管理类硕士研究生入学考试

MBA/EMBA/MPAcc/MPA/MEM/MTA/Maud/MLIS

管综逻辑基础

主讲：大刘

分析推理

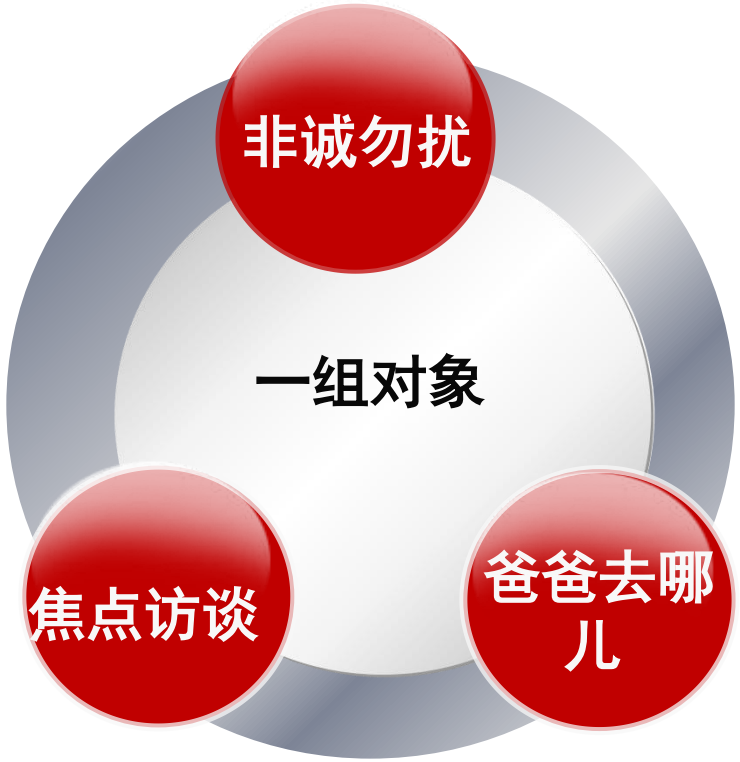

若干信息

- CCTV-1
- 江苏卫视
- 湖南卫视

一次聚会上，麦吉遇到了汤姆、卡尔和乔治三个人，他想知道他们三人分别是干什么的，但三人只提供了以下信息：三人中一位是律师、一位是推销员、一位是医生；乔治比医生年龄大，汤姆和推销员不同岁，推销员比卡尔年龄小。根据上述信息麦吉可以推出的结论是（　　）

甲、乙、丙、丁四名青少年拥有手机、电脑、相机三种电子产品的情况如下：

①只有一个人同时拥有手机、电脑、相机；

②有三个人拥有手机，有两个人拥有电脑，只有一个人拥有相机；

③每个人至少拥有三种电子产品中的一种；

④甲和乙是否拥有电脑的情况相同（要么两个都有，要么两个都没有）；

⑤乙和丙是否拥有手机的情况相同；

⑥丙和丁是否拥有手机的情况不同。

拥有相机的是：

A. 甲

B. 乙

C. 丙

D. 丁

E. 条件不足，无必然答案

一次聚会上，麦吉遇到了汤姆、卡尔和乔治三个人，他想知道他们三人分别是干什么的，但三人只提供了以下信息：三人中一位是律师、一位是推销员、一位是医生；乔治比医生年龄大，汤姆和推销员不同岁，推销员比卡尔年龄小。根据上述信息麦吉可以推出的结论是(　　)

几位同学对物理竞赛的名次进行猜测。

小钟说：“小华第三，小任第五。”

小华说：“小闽第五，小宫第四。”

小任说：“小钟第一，小闽第四。”

小闽说：“小任第一，小华第二。”

小宫说：“小钟第三，小闽第四。”

已知本次竞赛没有并列名次，并且每个名次都有人猜对。那么，具体名次应该是：



排除法

【例1】一次聚会上，麦吉遇到了汤姆、卡尔和乔治三个人，他想知道他们三人分别是干什么的，但三人只提供了以下信息：三人中一位是律师、一位是推销员、一位是医生；乔治比医生年龄大，汤姆和推销员不同岁，推销员比卡尔年龄小。根据上述信息麦吉可以推出的结论是?

A. 汤姆是律师，卡尔是推销员，乔治是医生

B. 汤姆是推销员，卡尔是医生，乔治是律师

C. 汤姆是医生，卡尔是律师，乔治是推销员

D. 汤姆是医生，卡尔是推销员，乔治是律师

E. 汤姆是推销员，乔治是律师，卡尔是医生

【例2】甲、乙、丙、丁是思维天资极高的艺术家，他们分别是舞蹈家、画家、歌唱家和作家，尚不能确定其中每个人所从事的专业领域。已知：

（1）有一天晚上，甲和丙出席了歌唱家的首次演出。

（2）画家曾经为乙和作家两个人画过肖像。

（3）作家正准备写一本甲的传记，他所写的丁的传记是畅销书。

（4）甲从来没有见过丙。

下面哪一选项正确的描述了每个人的身份？

A.甲是歌唱家，乙是作家，丙是画家，丁是舞蹈家

B.甲是舞蹈家，乙是歌唱家，丙是作家，丁是画家

C.甲是画家，乙是作家，丙是歌唱家，丁是作家

D.甲是作家，乙是画家，丙是舞蹈家，丁是歌唱家

E.甲是歌唱家，乙是画家，丙是作家，丁是舞蹈家

六一节快到了，幼儿园老师为班上的小明、小雷、小刚、小芳、小花等5位小朋友准备了了红、橙、黄、绿、青、蓝、紫等7份礼物。已知所有礼物都送了出去，每份礼物只能由一人获得，每人最多获得两份礼物。另外，礼物派送还需满足如下要求：

(1)如果小明收到橙色礼物，则小芳会收到蓝色礼物；

(2)如果小雷没有收到红色礼物，则小芳不会收到蓝色礼物；

(3)如果小刚没有收到黄色礼物，则小花不会收到紫色礼物；

(4)没有人既能收到黄色礼物，又能收到绿色礼物；

(5)小明只收到橙色礼物，而小花只收到紫色礼物。

【例3】根据上述信息，以下哪项可能为真？

A.小明和小芳都收到两份礼物。　　B.小雷和小刚都收到两份礼物。

C.小刚和小花都收到两份礼物。　　D.小芳和小花都收到两份礼物。　　E.小明和小雷都收到两份礼物。



选项代入

【例1】甲、乙、丙三人大学毕业后选择从事各不相同的职业：教师、律师、工程师。其他同学做了如下猜测：

小李：甲是工程师，乙是教师。

小王：甲是教师，丙是工程师。

小方：甲是律师，乙是工程师。

后来证实，小李、小王和小方都只猜对了一半。那么，甲、乙、丙分别从事何种职业？

A.甲是教师，乙是律师，丙是工程师

B.甲是工程师，乙是律师，丙是教师

C.甲是律师，乙是工程师，丙是教师

D.甲是律师，乙是教师，丙是工程师

E.无必然性答案

【例2】在某次考试中，有3个关于北京旅游景点的问题，要求考生每题选择某个景点的名称作为唯一答案。其中6位考生关于上述3个问题的答案依次如下：

第一位考生：天坛、天坛、天安门；

第二位考生：天安门、天安门、天坛；

第三位考生：故宫、故宫、天坛；

第四位考生：天坛、天安门、故宫；

第五位考生：天安门、故宫、天安门；

第六位考生：故宫、天安门、故宫；

考试结果表明每位考生都至少答对其中1道题。

根据以上陈述，可知这3个问题的答案依次是：

A.天坛、故宫、天坛　　B.故宫、天安门、天安门

C.天安门、故宫、天坛　　D.天坛、天坛、故宫

E.故宫、故宫、天坛

【例3】甲、乙、丙、丁4位同学参加学校运动会。已知他们4人每人都至少获得1个奖项，4人获奖总数为10。关于具体获奖情况，4人还有如下说法：

甲：乙和丙获奖总数为5；

乙：丙和丁获奖总数为5；

丙：丁和甲获奖总数为5；

丁：甲和乙获奖总数为4。

后来得知，获得2个奖项的人说了假话，而其他人均说了真话。

根据以上信息，甲、乙、丙、丁4人具体的获奖数分别应是：

A.2、3、2、3

B.2、4、1、3

C.2、2、2、4

D.2、2、3、3

E.2、2、2、3

【例1】本保险柜所有密码都是4个阿拉伯数字和4个英文字母的组合。已知：

（1）若4个英文字母不连续排列，则密码组合中的数字之和大于15；

（2）若4个英文字母连续排列，则密码组合中的数字之和等于15；

（3）密码组着中的数字之和或者等于18，或者小于15。

根据上述信息，以下哪项是可能的密码组合？

A.2acgf716。

B.18ac42de。

C.37av26dc。

D.1adbe356。

E.58bcde32。

【例2】小龙女需要从物理、化学、历史、政治、数学、语文和英语这7个科目中挑选4个参加辅导班，挑选必须符合下列条件：

（1）物理和化学必须且只能选择1科；

（2）数学和语文必须且只能选择1科；

（3）如果选择数学，则选择历史；

（4）如果不选择化学，就不选择英语。

以下哪项列出的科目不可能同时入选？

A.物理和数学

B.化学和历史

C.物理和英语

D.化学和语文

E.数学和化学



推理起点

【例1】甲、乙、丙三人大学毕业后选择从事各不相同的职业：教师、律师、工程师。其他同学做了如下猜测：

小李：甲是工程师，乙是教师。

小王：甲是教师，丙是工程师。

小方：甲是律师，乙是工程师。

后来证实，小李、小王和小方都只猜对了一半。那么，甲、乙、丙分别从事何种职业？

A.甲是教师，乙是律师，丙是工程师

B.甲是工程师，乙是律师，丙是教师

C.甲是律师，乙是工程师，丙是教师

D.甲是律师，乙是教师，丙是工程师

E.无必然性答案

【例2】某机关甲、乙、丙、丁4个处室准备深入基层调研。他们准备调研的地方是红星乡、朝阳乡、永丰街道、幸福街道。每个处室恰好选择其中一个地方，各不重复。已知：

（1）要么甲选幸福街道，要么乙选幸福街道，两者必居其一；

（2）要么甲选红星乡，要么丙选永丰街道，两者必居其一；

（3）如果丙选永丰街道，则丁选幸福街道。

根据以上陈述，可以得出以下哪项？

A. 甲选朝阳乡

B. 乙选红星乡

C. 丙选幸福街道

D. 丁选永丰街道

E. 条件不足，无必然结论



符号、方向排序

【例1】甲、乙和丙，一位是广东人，一位是上海人，一位是安徽人。现在只知道：丙比安徽人年龄大，甲和上海人不同岁，上海人比乙年龄小。

由此可以推知：

A. 甲不是安徽人

B. 上海人比甲年龄小

C. 上海人比广东人年龄大

D. 安徽人年龄最小

E. 条件不足，无必然性答案

【例2】某政务服务中心一楼有公安、民政、人社和卫计共4 个服务窗口，现计划按照业务量由多到少调整窗口的顺序。已知，调整前各窗口业务量如下：

1 号窗口比民政窗口多；

3 号窗口比2 号窗口少；

卫计窗口比公安窗口多；

人社窗口比民政窗口少。

卫计窗口不是3 号窗口就是4 号窗口。

据此，以下哪一项一定为真？

A.公安窗口不是业务量最少的

B.卫计窗口不是业务量最多的

C.人社窗口应该从4 号调整到3 号

D.民政窗口应该从3 号调整到2 号

E.民政窗口应该从1 号调整到2 号



列表梳理信息

【例1】某省大力发展旅游产业，目前已经形成东湖、西岛、南山三个著名景点，每处景点都有二日游、三日游、四日游三种路线。李明、王刚、张波拟赴上述三地进行9日游，每个人都设计了各自的旅游计划。后来发现，每处景点他们三人都选择了不同的路线：李明赴东湖的计划天数与王刚赴西岛的计划天数相同，李明赴南山的计划是三日游，王刚赴南山的计划是四日游。

根据以上陈述，可以得出以下哪项?

A.李明计划东湖二日游，王刚计划西岛二日游。

B.王刚计划东湖三日游，张波计划西岛四日游。

C.张波计划东湖四日游，王刚计划西岛三日游。

D.张波计划东湖三日游，李明计划西岛四日游。

E.李明计划东湖二日游，王刚计划西岛三日游。

- **分 析 推 理**

3. 材料题

通过材料直接推出来的结论可以应用于所有题。

（2017.51-52）题基于以下题干

六一节快到了，幼儿园老师为班上的小明、小雷、小刚、小芳、小花等5位小朋友准备了了红、橙、黄、绿、青、蓝、紫等7份礼物。已知所有礼物都送了出去，每份礼物只能由一人获得，每人最多获得两份礼物。另外，礼物派送还需满足如下要求：

（1）如果小明收到橙色礼物，则小芳会收到蓝色礼物；

（2）如果小雷没有收到红色礼物，则小芳不会收到蓝色礼物；

（3）如果小刚没有收到黄色礼物，则小花不会收到紫色礼物；

（4）没有人既能收到黄色礼物，又能收到绿色礼物；

（5）小明只收到橙色礼物，而小花只收到紫色礼物。

【例1】 51.根据上述信息，以下哪项可能为真？

A.小明和小芳都收到两份礼物。

B.小雷和小刚都收到两份礼物。

C.小刚和小花都收到两份礼物。

D.小芳和小花都收到两份礼物。

E.小明和小雷都收到两份礼物。

（2017.51-52）题基于以下题干

六一节快到了，幼儿园老师为班上的小明、小雷、小刚、小芳、小花等5位小朋友准备了了红、橙、黄、绿、青、蓝、紫等7份礼物。已知所有礼物都送了出去，每份礼物只能由一人获得，每人最多获得两份礼物。另外，礼物派送还需满足如下要求：

（1）如果小明收到橙色礼物，则小芳会收到蓝色礼物；

（2）如果小雷没有收到红色礼物，则小芳不会收到蓝色礼物；

（3）如果小刚没有收到黄色礼物，则小花不会收到紫色礼物；

（4）没有人既能收到黄色礼物，又能收到绿色礼物；

（5）小明只收到橙色礼物，而小花只收到紫色礼物。

【例2】 52.根据上述信息，如果小刚收到两份礼物，则可以得出以下哪项？

A.小雷收到红色和绿色两份礼物。

B.小刚收到黄色和蓝色两份礼物。

C.小芳收到绿色和蓝色两份礼物。

D.小刚收到黄色和青色两份礼物。

E.小芳收到青色和蓝色两份礼物。

管理类硕士研究生入学考试

MBA/EMBA/MPAcc/MPA/MEM/MTA/MAud/MLIS

让逻辑备考更有效！

——大刘