管理类联考-逻辑

考前密训

主讲：元元老师

199管综学科	数学	逻辑	写作	合计
分值（总）	75分	60分	65分	200分
题量	25题	30题	2题	57题
分值（题）	3分/题	2分/题	30分+35分	

重点知识回顾

一、直言判断换位

1.“全称”换“全称”

规则：只可逆否，不可换位。

即：S→¬ P为真时，可知：P→¬ S。

2.“特称”换“特称”

规则：只可换位，不可逆否。

即：有的S⟹P为真时，可知：有的P⟹S。

3.“全称”推“特称”

即：S→P为真时，可知：①有的S⟹P为真；换位得：②有的P⟹S为真。

4.“特称”推“全称”

若不构成矛盾关系，无法根据“特称”去判断“全称”的情况。

二、假言判断

1. 假言联结词

（1）如果P，那么Q

（2）只有P，才Q / 除非P，否则不Q

（3）除非P，否则Q

（4）P当且仅当Q

2. 逆否等价（肯前必肯后，否后必否前，否前肯后无必然**)**

3. P→Q的矛盾是P∧ -Q

4. P→Q等价于-P∨ Q

三、联言&选言

1. A 或B→-A→B

选言命题 否一推一

不相容选言还能肯一否一

2. 德摩根公式：联言和相容选言的矛盾互换

-(A 且B) ⇔-A 或 -B

-(A 或B) ⇔-A 且 -B

德摩根公式：逐个添负号，或变且，且变或

四、综合推理题的五种条件类型

1. 确定信息：如“老李周四值班”

2. 半确定信息：相容选言、不相容选言　　甲乙分别在AB中的一个

3. 假言：综合运用假言的推理规则

4. 数量

（1）除了直给的数量，还要举一反三，如“张王赵李四位老师每人教2门课”，那意味着有8课次

（2）注意最多最少，最多3个是小于等于3，最少3个是大于等于3

5. 匹配

（1）对应关系：甲乙丙丁分别看了ABCD四本书中的一本

（2）互斥关系：张老师和数学老师住同一宿舍

（3）方位关系：小明和小华坐在对面

一、 综合推理

快速拿分型

1～2题基于以下题干：

一江南园林拟建松、竹、梅、兰、菊5个园子。该园林拟设东、南、北3个门，分别位于其中3个园子。这5个园子的布局满足如下条件：

（1）如果东门位于松园或菊园，那么南门不位于竹园；

（2）如果南门不位于竹园，那么北门不位于兰园；

（3）如果菊园在园林的中心，那么它与兰园不相邻；

（4）兰园与菊园相邻，中间连着一座美丽的廊桥。

1. **根据以上信息，可以得出以下哪项？【　】**

A.兰园不在园林的中心　　B.菊园不在园林的中心

C.兰园在园林的中心　　D.菊园在园林的中心　　E.梅园不在园林的中心

1～2题基于以下题干：

一江南园林拟建松、竹、梅、兰、菊5个园子。该园林拟设东、南、北3个门，分别位于其中3个园子。这5个园子的布局满足如下条件：

（1）如果东门位于松园或菊园，那么南门不位于竹园；

（2）如果南门不位于竹园，那么北门不位于兰园；

（3）如果菊园在园林的中心，那么它与兰园不相邻；

（4）兰园与菊园相邻，中间连着一座美丽的廊桥。

1. **根据以上信息，可以得出以下哪项？【B】**

A.兰园不在园林的中心　　**B.菊园不在园林的中心**

C.兰园在园林的中心　　D.菊园在园林的中心　　E.梅园不在园林的中心

1～2题基于以下题干：

一江南园林拟建松、竹、梅、兰、菊5个园子。该园林拟设东、南、北3个门，分别位于其中3个园子。这5个园子的布局满足如下条件：

（1）如果东门位于松园或菊园，那么南门不位于竹园；

（2）如果南门不位于竹园，那么北门不位于兰园；

（3）如果菊园在园林的中心，那么它与兰园不相邻；

（4）兰园与菊园相邻，中间连着一座美丽的廊桥。

2. **如果北门位于兰园，则可以得出以下哪项？【 】**

A.南门位于菊园　　B.东门位于竹园

C.东门位于梅园　　D.东门位于松园　　E.南门位于梅园

1～2题基于以下题干：

一江南园林拟建松、竹、梅、兰、菊5个园子。该园林拟设东、南、北3个门，分别位于其中3个园子。这5个园子的布局满足如下条件：

（1）如果东门位于松园或菊园，那么南门不位于竹园；

（2）如果南门不位于竹园，那么北门不位于兰园；

（3）如果菊园在园林的中心，那么它与兰园不相邻；

（4）兰园与菊园相邻，中间连着一座美丽的廊桥。

2. **如果北门位于兰园，则可以得出以下哪项？【C】**

A.南门位于菊园　　B.东门位于竹园

C.东门位于梅园　　D.东门位于松园　　E.南门位于梅园

3～4题基于以下题干：

某工厂有一员工宿舍住了甲、乙、丙、丁、戊、己、庚7人，每人每周需轮流值日一天，且每天仅安排一人值日。他们值日的安排还需满足以下条件：

（1）乙周二或周六值日；

（2）如果甲周一值日，那么丙周三值日且戊周五值日；

（3）如果甲周一不值日，那么己周四值日且庚周五值日；

（4）如果乙周二值日，那么己周六值日。

3. 根据以上条件，如果丙周日值日，则可以得出以下哪项？【 】

A.甲周一值日　B.乙周六值日　C.丁周二值日　D.戊周三值日　E.己周五值日

3～4题基于以下题干：

某工厂有一员工宿舍住了甲、乙、丙、丁、戊、己、庚7人，每人每周需轮流值日一天，且每天仅安排一人值日。他们值日的安排还需满足以下条件：

（1）乙周二或周六值日；

（2）如果甲周一值日，那么丙周三值日且戊周五值日；

（3）如果甲周一不值日，那么己周四值日且庚周五值日；

（4）如果乙周二值日，那么己周六值日。

3. 根据以上条件，如果丙周日值日，则可以得出以下哪项？【B】

A.甲周一值日　**B.乙周六值日**　C.丁周二值日　D.戊周三值日　E.己周五值日

3～4题基于以下题干：

某工厂有一员工宿舍住了甲、乙、丙、丁、戊、己、庚7人，每人每周需轮流值日一天，且每天仅安排一人值日。他们值日的安排还需满足以下条件：

（1）乙周二或周六值日；

（2）如果甲周一值日，那么丙周三值日且戊周五值日；

（3）如果甲周一不值日，那么己周四值日且庚周五值日；

（4）如果乙周二值日，那么己周六值日。

4. 如果庚周四值日，那么以下哪项一定为假？【 】

A.甲周一值日　B.乙周六值日　C.丙周三值日　D.戊周日值日　E.己周二值日

3～4题基于以下题干：

某工厂有一员工宿舍住了甲、乙、丙、丁、戊、己、庚7人，每人每周需轮流值日一天，且每天仅安排一人值日。他们值日的安排还需满足以下条件：

（1）乙周二或周六值日；

（2）如果甲周一值日，那么丙周三值日且戊周五值日；

（3）如果甲周一不值日，那么己周四值日且庚周五值日；

（4）如果乙周二值日，那么己周六值日。

4. 如果庚周四值日，那么以下哪项一定为假？【D】

A.甲周一值日　B.乙周六值日　C.丙周三值日　**D.戊周日值日**　E.己周二值日

5.某单位拟在椿树、枣树、楝树、雪松、银杏、桃树中选择 4 种栽种在庭院中。已知：

（1）椿树、枣树至少种植一种。

（2）如果种植椿树，则种植楝树但不种植雪松。

（3）如果种植枣树，则种植雪松但不种植银杏。

如果庭院中种植银杏，则以下哪项是不可能的？【 】

A.种植椿树。

B.种植楝树。

C.不种植枣树。

D.不种植雪松。

E.不种植桃树。

5.某单位拟在椿树、枣树、楝树、雪松、银杏、桃树中选择 4 种栽种在庭院中。已知：

（1）椿树、枣树至少种植一种。

（2）如果种植椿树，则种植楝树但不种植雪松。

（3）如果种植枣树，则种植雪松但不种植银杏。

如果庭院中种植银杏，则以下哪项是不可能的？【E】

A.种植椿树。

B.种植楝树。

C.不种植枣树。

D.不种植雪松。

E.不种植桃树。

二、 论证推理

1.尽管近年来我国引进不少人才，但真正顶尖的领军人才还是凤毛麟角。就全球而言，人才特别是高层次人才紧缺已呈常态化、长期化趋势。某专家由此认为，未来 10 年，美国、加拿大、德国等主要发达国家对高层次人才的争夺将进一步加剧，而发展中国家的高层次人才紧缺状况更甚于发达国家，因此，我国高层次人才引进工作急需进一步加强。

以下哪项如果为真，最能加强上述专家的论证？【 】

A.我国近年来引进的领军人才数量不及美国等发达国家。

B.我国理工科高层次人才紧缺程度更甚于文科。

C.发展中国家的一般性人才不比发达国家少。

D.我国仍然是发展中国家。

E.人才是衡量一个国家综合国力的重要指标。

1.尽管近年来我国引进不少人才，但真正顶尖的领军人才还是凤毛麟角。就全球而言，人才特别是高层次人才紧缺已呈常态化、长期化趋势。某专家由此认为，未来 10 年，美国、加拿大、德国等主要发达国家对高层次人才的争夺将进一步加剧，而**发展中国家**的高层次人才紧缺状况更甚于发达国家，因此，**我国高层次人才引进工作急需进一步加强**。

以下哪项如果为真，最能加强上述专家的论证？【D】

A.我国近年来引进的领军人才数量不及美国等发达国家。

B.我国理工科高层次人才紧缺程度更甚于文科。

C.发展中国家的一般性人才不比发达国家少。

D.我国仍然是发展中国家。

E.人才是衡量一个国家综合国力的重要指标。

2. 人类经历了上百万年的自然进化，产生了直觉、多层次抽象等独特智能，尽管现代计算机已经具备了一定的学习能力，但这种能力还需要人类的指导，完全的自我学习能力还有待进一步发展，因此，计算机要达到甚至超过人类的智能水平是不可能的。

以下哪项最可能是上述论证的预设？【 】

A.计算机很难真正懂得人类的语言，更不可能理解人类的感情。

B.理解人类复杂的社会关系需要自我学习能力。

C.计算机如果具备完全的自我学习能力，就能形成直觉、多层次抽象等智能。

D.计算机可以形成自然进化能力。

E.直觉、多层次抽象等这些人类的独特智能无法通过学习获得。

2. 人类经历了上百万年的自然进化，产生了直觉、多层次抽象等独特智能，尽管现代计算机已经具备了一定的学习能力，但这种能力还需要人类的指导，完全的自我学习能力还有待进一步发展，因此，计算机要达到甚至超过人类的智能水平是不可能的。

以下哪项最可能是上述论证的预设？【E】

A.计算机很难真正懂得人类的语言，更不可能理解人类的感情。

B.理解人类复杂的社会关系需要自我学习能力。

C.计算机如果具备完全的自我学习能力，就能形成直觉、多层次抽象等智能。

D.计算机可以形成自然进化能力。

E.直觉、多层次抽象等这些人类的独特智能无法通过学习获得。

3.补充胶原蛋白已经成为当下很多女性抗衰老的手段之一。她们认为：吃猪蹄能够补充胶原蛋白，为了美容养颜，最好多吃些猪蹄。近日有些专家对此表示质疑，他们认为多吃猪蹄其实并不能补充胶原蛋白。

以下哪项如果为真，最能质疑上述专家的观点？【 】

A.猪蹄中的胶原蛋白会被人体的消化系统分解，不会直接以胶原蛋白的形态补充到皮肤中。

B.人们在日常生活中摄入的优质蛋白和水果、蔬菜中的营养物质，足以提供人体所需的胶原蛋白。

C.猪蹄中胶原蛋白的含量并不多，但胆固醇含量高、脂肪多，食用过多会引起肥胖，还会增加患高血压的风险。

D.猪蹄中的胶原蛋白经过人体消化后会被分解成氨基酸等物质，氨基酸参与人体生理活动，再合成人体必需的胶原蛋白等多种蛋白质。

E.胶原蛋白是人体皮肤、骨骼和肌腱中的主要结构蛋白，它填充在真皮之间。撑起皮肤组织，增加皮肤紧密度，使皮肤水润而富有弹性。

3.补充胶原蛋白已经成为当下很多女性抗衰老的手段之一。她们认为：吃猪蹄能够补充胶原蛋白，为了美容养颜，最好多吃些猪蹄。近日有些专家对此表示质疑，他们认为多吃猪蹄其实并不能补充胶原蛋白。

以下哪项如果为真，最能质疑上述专家的观点？【D】

A.猪蹄中的胶原蛋白会被人体的消化系统分解，不会直接以胶原蛋白的形态补充到皮肤中。

B.人们在日常生活中摄入的优质蛋白和水果、蔬菜中的营养物质，足以提供人体所需的胶原蛋白。

C.猪蹄中胶原蛋白的含量并不多，但胆固醇含量高、脂肪多，食用过多会引起肥胖，还会增加患高血压的风险。

D.猪蹄中的胶原蛋白经过人体消化后会被分解成氨基酸等物质，氨基酸参与人体生理活动，再合成人体必需的胶原蛋白等多种蛋白质。

E.胶原蛋白是人体皮肤、骨骼和肌腱中的主要结构蛋白，它填充在真皮之间。撑起皮肤组织，增加皮肤紧密度，使皮肤水润而富有弹性。

4. 当企业处于蓬勃上升时期，往往紧张而忙碌，没有时间和精力去设计和修建“琼楼玉宇”；当企业所有的重要工作都已经完成，其时间和精力就开始集中在修建办公大楼上。所以，如果一个企业的办公大楼设计得越完美，装饰得越豪华，则该企业离解体的时间就越近；当某个企业的大楼设计和建造趋向完美之际，它的存在就逐渐失去意义。这就是所谓的“办公大楼法则”。

以下哪项如果为真，最能质疑上述观点？【 】

A.某企业的办公大楼修建得美轮美奂，入住后该企业的事业蒸蒸日上。

B.一个企业如果将时间和精力都耗在修建办公大楼上，则对其他重要工作就投入不足了。

C.建造豪华的办公大楼，往往会加大企业的运营成本，损害其实际收益。

D.企业的办公大楼越破旧，该企业就越有活力和生机。

E.建造豪华办公大楼并不需要企业投入太多的时间和精力。

4. 当企业处于蓬勃上升时期，往往紧张而忙碌，没有时间和精力去设计和修建“琼楼玉宇”；当企业所有的重要工作都已经完成，其时间和精力就开始集中在修建办公大楼上。所以，如果一个企业的办公大楼设计得越完美，装饰得越豪华，则该企业离解体的时间就越近；当某个企业的大楼设计和建造趋向完美之际，它的存在就逐渐失去意义。这就是所谓的“办公大楼法则”。

以下哪项如果为真，最能质疑上述观点？【A】

A.某企业的办公大楼修建得美轮美奂，入住后该企业的事业蒸蒸日上。

B.一个企业如果将时间和精力都耗在修建办公大楼上，则对其他重要工作就投入不足了。

C.建造豪华的办公大楼，往往会加大企业的运营成本，损害其实际收益。

D.企业的办公大楼越破旧，该企业就越有活力和生机。

E.建造豪华办公大楼并不需要企业投入太多的时间和精力。

5. 2014年，为迎接APEC会议的召开，北京、天津、河北等地实施“APEC治理模式”，采取了有史以来最严格的减排措施。果然，令人心醉的“APEC蓝”出现了。然而，随着会议的结束，“APEC蓝”也渐渐消失了。对此，有些人士表示困惑，既然政府能在短期内实施“APEC治理模式”取得良好效果，为什么不将这一模式长期坚持下去呢?

以下除哪项外，均能解释人们的困惑？【 】

A.短期严格的减排措施只能是权宜之计，大气污染治理仍需从长计议。

B.如果APEC会议期间北京雾霾频发，就会影响我们国家的形象。

C.任何环境治理都需要付出代价，关键在于付出的代价是否超出收益。

D.如果近期将“APEC治理模式”常态化，将会严重影响地方经济和社会的发展。

E.最严格的减排措施在落实过程中已产生很多难以解决的实际困难。

5. 2014年，为迎接APEC会议的召开，北京、天津、河北等地实施“APEC治理模式”，采取了有史以来最严格的减排措施。果然，令人心醉的“APEC蓝”出现了。然而，随着会议的结束，“APEC蓝”也渐渐消失了。对此，有些人士表示困惑，既然政府能在短期内实施“APEC治理模式”取得良好效果，为什么不将这一模式长期坚持下去呢？

以下除哪项外，均能解释人们的困惑？【B】

A.短期严格的减排措施只能是权宜之计，大气污染治理仍需从长计议。

B.如果APEC会议期间北京雾霾频发，就会影响我们国家的形象。

C.任何环境治理都需要付出代价，关键在于付出的代价是否超出收益。

D.如果近期将“APEC治理模式”常态化，将会严重影响地方经济和社会的发展。

E.最严格的减排措施在落实过程中已产生很多难以解决的实际困难。

三、 结构类似

1. 作为一名环保爱好者，赵博士提倡低碳生活，积极宣传节能减排。但我不赞同他的做法，因为作为一名大学老师，他这样做，占用了大量的科研时间，到现在连副教授都没评上，他的观点怎么能令人信服呢？

以下哪项论证中的错误和上述最为相似？【 】

A.公司的绩效奖励制度是为了充分调动广大员工的积极性，它对所有员工都是公平的。如果有人对此有不同意见，则说明他反对公平。

B.最近听说你对单位的管理制度提了不少意见，这真令人难以置信！单位领导对你差吗？这样做，分明是和单位领导过不去。

C.有一种观点认为，只有直接看到的事物才能确信其存在。但是没有人可以看到质子、电子，而这些都被科学证明是客观存在的。所以，该观点是错误的。

D.张某提出要同工同酬，主张在质量相同的情况下，不分年龄、级别一律按件计酬。她这样说不就是因为她年轻、级别低吗？其实她是在为自己谋利益。

E.单位任命李某担任信息科科长，听说你对此有意见。大家都没有提意见，只有你一个人有意见，看来你的意见是有问题的。

1. 作为一名环保爱好者，赵博士提倡低碳生活，积极宣传节能减排。但我不赞同他的做法，因为作为一名大学老师，他这样做，占用了大量的科研时间，到现在连副教授都没评上，他的观点怎么能令人信服呢？

以下哪项论证中的错误和上述最为相似？【D】

A.公司的绩效奖励制度是为了充分调动广大员工的积极性，它对所有员工都是公平的。如果有人对此有不同意见，则说明他反对公平。

B.最近听说你对单位的管理制度提了不少意见，这真令人难以置信！单位领导对你差吗？这样做，分明是和单位领导过不去。

C.有一种观点认为，只有直接看到的事物才能确信其存在。但是没有人可以看到质子、电子，而这些都被科学证明是客观存在的。所以，该观点是错误的。

D.张某提出要同工同酬，主张在质量相同的情况下，不分年龄、级别一律按件计酬。她这样说不就是因为她年轻、级别低吗？其实她是在为自己谋利益。

E.单位任命李某担任信息科科长，听说你对此有意见。大家都没有提意见，只有你一个人有意见，看来你的意见是有问题的。

2.考生若考试通过并且体检合格，则将被录取。

因此，如果李铭考试通过，但未被录取，那么他一定体检不合格。

以下哪项与以上论证方式最为相似？【 】

A.若明天是节假日并且天气晴朗，则小吴将去爬山。

因此，如果小吴未去爬山，那么第二天一定不是节假日或者天气不好。

B.一个数若能被 3 整除且能被 5 整除，则这个数能被 15 整除。

因此，一个数若能被 3 整除但不能被 5 整除，则这个数一定不能被 15 整除。

C.甲单位员工若去广州出差并且是单人前往，则均乘坐高铁。

因此，甲单位小吴如果去广州出差，但未乘坐高铁，那么他一定不是单人前往。

D.若现在是春天并且雨水充沛，则这里野草丰美。

因此，如果这里野草丰美，但雨水不充沛，那么现在一定不是春天。

E.一壶茶若水质良好且温度适中，则一定茶香四溢。

因此，如果这壶茶水质良好且茶香四溢，那么一定温度适中。

2.考生若考试通过并且体检合格，则将被录取。

因此，如果李铭考试通过，但未被录取，那么他一定体检不合格。

以下哪项与以上论证方式最为相似？【 】

若 A 且 B，则 C

因此，如果 A 但¬C，那么¬B

A.若明天是节假日并且天气晴朗，则小吴将去爬山。

因此，如果小吴未去爬山，那么第二天一定不是节假日或者天气不好。

B.一个数若能被 3 整除且能被 5 整除，则这个数能被 15 整除。

因此，一个数若能被 3 整除但不能被 5 整除，则这个数一定不能被 15 整除。

C.甲单位员工若去广州出差并且是单人前往，则均乘坐高铁。

因此，甲单位小吴如果去广州出差，但未乘坐高铁，那么他一定不是单人前往。

D.若现在是春天并且雨水充沛，则这里野草丰美。

因此，如果这里野草丰美，但雨水不充沛，那么现在一定不是春天。

E.一壶茶若水质良好且温度适中，则一定茶香四溢。

因此，如果这壶茶水质良好且茶香四溢，那么一定温度适中。

2.考生若考试通过并且体检合格，则将被录取。

因此，如果李铭考试通过，但未被录取，那么他一定体检不合格。

以下哪项与以上论证方式最为相似？【C】

A.若明天是节假日并且天气晴朗，则小吴将去爬山。

因此，如果小吴未去爬山，那么第二天一定不是节假日或者天气不好。

B.一个数若能被 3 整除且能被 5 整除，则这个数能被 15 整除。

因此，一个数若能被 3 整除但不能被 5 整除，则这个数一定不能被 15 整除。

C.甲单位员工若去广州出差并且是单人前往，则均乘坐高铁。

因此，甲单位小吴如果去广州出差，但未乘坐高铁，那么他一定不是单人前往。

D.若现在是春天并且雨水充沛，则这里野草丰美。

因此，如果这里野草丰美，但雨水不充沛，那么现在一定不是春天。

E.一壶茶若水质良好且温度适中，则一定茶香四溢。

因此，如果这壶茶水质良好且茶香四溢，那么一定温度适中。

四、 形式逻辑

1. 领导干部对于各种批评意见应采取有则改之、无则加勉的态度，营造言者无罪、闻者足戒的氛围。只有这样，人们才能知无不言、言无不尽。领导干部只有从谏如流并为说真话者撑腰，才能做到“兼听则明”或作出科学决策；只有乐于和善于听取各种不同意见，才能营造风清气正的政治生态。

根据以上信息，可以得出以下哪项？【 】

A.领导干部必须善待批评、从谏如流，为说真话者撑腰。

B.大多数领导干部对于批评意见能够采取有则改之、无则加勉的态度。

C.领导干部如果不能从谏如流，就不能作出科学决策。

D.只有营造言者无罪、闻者足戒的氛围，才能形成风清气正的政治生态。

E.领导干部只有乐于和善于听取各种不同意见，人们才能知无不言、言无不尽。

1. 领导干部对于各种批评意见应采取有则改之、无则加勉的态度，营造言者无罪、闻者足戒的氛围。只有这样，人们才能知无不言、言无不尽。领导干部只有从谏如流并为说真话者撑腰，才能做到“兼听则明”或作出科学决策；只有乐于和善于听取各种不同意见，才能营造风清气正的政治生态。

根据以上信息，可以得出以下哪项？【C】

A.领导干部必须善待批评、从谏如流，为说真话者撑腰。

B.大多数领导干部对于批评意见能够采取有则改之、无则加勉的态度。

C.领导干部如果不能从谏如流，就不能作出科学决策。

D.只有营造言者无罪、闻者足戒的氛围，才能形成风清气正的政治生态。

E.领导干部只有乐于和善于听取各种不同意见，人们才能知无不言、言无不尽。

2.人非生而知之者，孰能无惑？惑而不从师，其为惑也，终不解矣。生乎吾前，其闻道也固先乎吾，吾从而师之；生乎吾后，其闻道也亦先乎吾，吾从而师之。吾师道也，夫庸知其年之先后生于吾乎？是故无贵无贱，无长无少，道之所存，师之所存也。

根据以上信息，可以得出以下哪项？【 】

A.与吾生乎同时，其闻道也必先乎吾。

B.师之所存，道之所存也。

C.无贵无贱，无长无少，皆为吾师。

D.与吾生乎同时，其闻道不必先乎吾。

E.若解惑，必从师。

2.人非生而知之者，孰能无惑？惑而不从师，其为惑也，终不解矣。生乎吾前，其闻道也固先乎吾，吾从而师之；生乎吾后，其闻道也亦先乎吾，吾从而师之。吾师道也，夫庸知其年之先后生于吾乎？是故无贵无贱，无长无少，道之所存，师之所存也。

根据以上信息，可以得出以下哪项？【E】

A.与吾生乎同时，其闻道也必先乎吾。

B.师之所存，道之所存也。

C.无贵无贱，无长无少，皆为吾师。

D.与吾生乎同时，其闻道不必先乎吾。

E.若解惑，必从师。

五、 综合推理

难拿分型

（1-2）某园艺公司打算在如下形状的花圃中栽种玫瑰、兰花、菊花三个品种的花卉。该花圃的形状如下图所示：拟栽种的玫瑰有紫、红、白3种颜色，兰花有红、白、黄3种颜色，菊花有白、黄、蓝3种颜色。栽种需满足如下要求；

（1）每个六边形格子中仅栽种一个品种、一个颜色的花；

（2）每个品种只栽种两种颜色的花；

（3）相邻格子中的花，其品种与颜色均不相同。

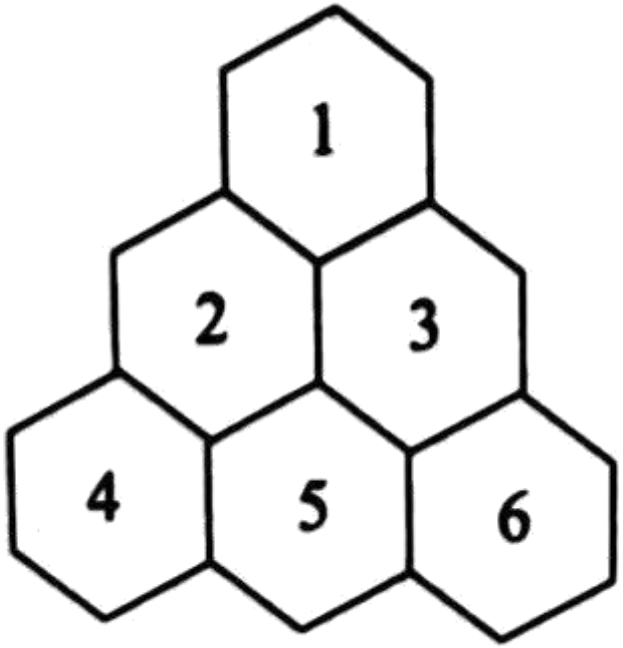

1. **若格子5中是红色的花，则以下哪项是不可能的？【 】**

A.格子2中是紫色的玫瑰。

B.格子1中是白色的兰花。

C.格子1中是白色的菊花。

D.格子4中是白色的兰花。

E.格子6中是蓝色的菊花。

（1-2）某园艺公司打算在如下形状的花圃中栽种玫瑰、兰花、菊花三个品种的花卉。该花圃的形状如下图所示：拟栽种的玫瑰有紫、红、白3种颜色，兰花有红、白、黄3种颜色，菊花有白、黄、蓝3种颜色。栽种需满足如下要求；

（1）每个六边形格子中仅栽种一个品种、一个颜色的花；

（2）每个品种只栽种两种颜色的花；

（3）相邻格子中的花，其品种与颜色均不相同。

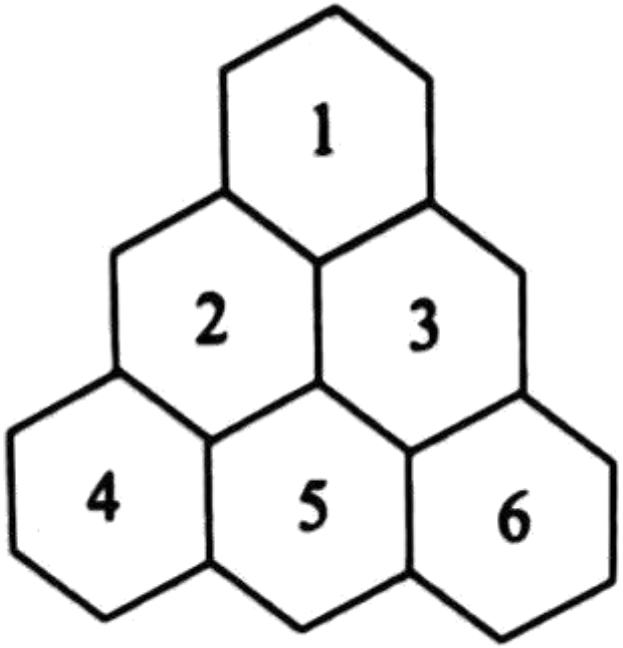

1. **若格子5中是红色的花，则以下哪项是不可能的？【C】**

A.格子2中是紫色的玫瑰。

B.格子1中是白色的兰花。

C.格子1中是白色的菊花。

D.格子4中是白色的兰花。

E.格子6中是蓝色的菊花。

（1-2）某园艺公司打算在如下形状的花圃中栽种玫瑰、兰花、菊花三个品种的花卉。该花圃的形状如下图所示：拟栽种的玫瑰有紫、红、白3种颜色，兰花有红、白、黄3种颜色，菊花有白、黄、蓝3种颜色。栽种需满足如下要求；

（1）每个六边形格子中仅栽种一个品种、一个颜色的花；

（2）每个品种只栽种两种颜色的花；

（3）相邻格子中的花，其品种与颜色均不相同。

2. **若格子5中是红色的玫瑰，且格子3中是黄色的花，则可以得出以下哪项？【 】**

A.格子1中是紫色的玫瑰。

B.格子4中是白色的菊花。

C.格子2中是白色的菊花。

D.格子4中是白色的兰花。

E.格子6中是蓝色的菊花。

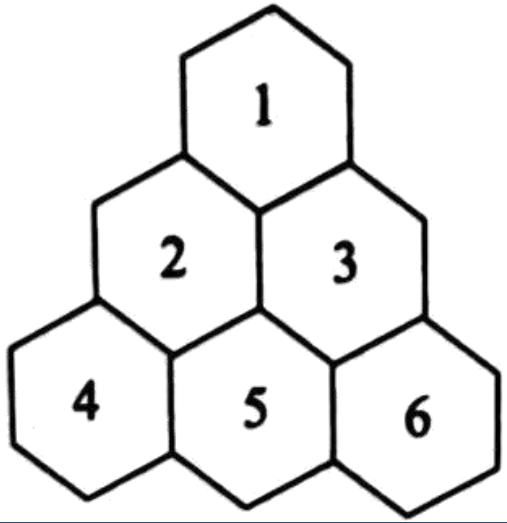

（1-2）某园艺公司打算在如下形状的花圃中栽种玫瑰、兰花、菊花三个品种的花卉。该花圃的形状如下图所示：拟栽种的玫瑰有紫、红、白3种颜色，兰花有红、白、黄3种颜色，菊花有白、黄、蓝3种颜色。栽种需满足如下要求；

（1）每个六边形格子中仅栽种一个品种、一个颜色的花；

（2）每个品种只栽种两种颜色的花；

（3）相邻格子中的花，其品种与颜色均不相同。

2. **若格子5中是红色的玫瑰，且格子3中是黄色的花，则可以得出以下哪项？【D】**

A.格子1中是紫色的玫瑰。

B.格子4中是白色的菊花。

C.格子2中是白色的菊花。

D.格子4中是白色的兰花。

E.格子6中是蓝色的菊花。

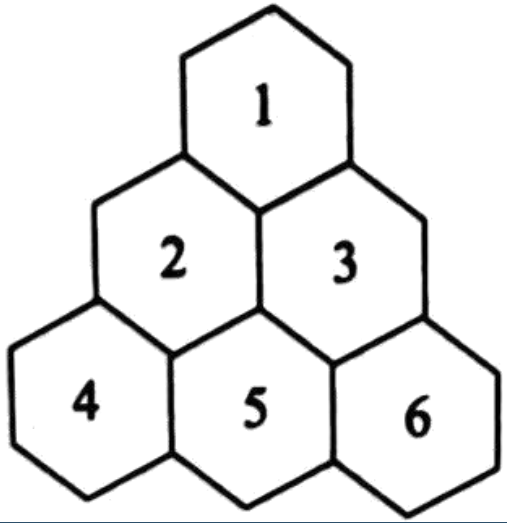

3. 某学期学校新开设4门课程：“《诗经》鉴赏”“老子研究”“唐诗鉴赏”“宋词选读”。

李晓明、陈文静、赵珊珊和庄志达4人各选修了其中一门课程。已知：

（1）他们4人选修的课程各不相同；

（2）喜爱诗词的赵珊珊选修的是诗词类课程；

（3）李晓明选修的不是“《诗经》鉴赏”就是“唐诗鉴赏”。

以下哪项如果为真，就能确定赵珊珊选修的是“宋词选读”？【 】

A.庄志达选修的不是“宋词选读”

B.庄志达选修的是“老子研究”

C.庄志达选修的不是“老子研究”

D.庄志达选修的是“《诗经》鉴赏”

E.庄志达选修的不是“《诗经》鉴赏”

3. 某学期学校新开设4门课程：“《诗经》鉴赏”“老子研究”“唐诗鉴赏”“宋词选读”。

李晓明、陈文静、赵珊珊和庄志达4人各选修了其中一门课程。已知：

（1）他们4人选修的课程各不相同；

（2）喜爱诗词的赵珊珊选修的是诗词类课程；

（3）李晓明选修的不是“《诗经》鉴赏”就是“唐诗鉴赏”。

以下哪项如果为真，就能确定赵珊珊选修的是“宋词选读”？【D】

A.庄志达选修的不是“宋词选读”

B.庄志达选修的是“老子研究”

C.庄志达选修的不是“老子研究”

D.庄志达选修的是“《诗经》鉴赏”

E.庄志达选修的不是“《诗经》鉴赏”

感谢聆听

主讲：元元老师