管理类专业学位硕士研究生入学统一考试

逻辑

管理类联考 进阶题海

适用于MBA、MPA、MPAcc、MEM

综述、概念

1.美国政府决策者面临的一个头痛的问题就是所谓的“别在我家门口”综合征，例如，尽管民意测验一次又一次地显示大多数公众都赞成建新的监狱，但是，当决策者正式宣布计划要在某地建一新监狱时，总会遭到附近居民的抗议，并且抗议者总有办法使计划搁浅。

以下哪项也属于上面所说的“别在我家门口”综合征？【D】

A.某家长主张，感染了艾滋病毒的孩子不许进入公共学校，当他知道一个感染了艾滋病毒的孩子进入了他孩子所在的学校，他立即为自己孩子办理了退学手续。

B.某政客主张所有政府官员都必须将个人财产公开登记，但他自己却递交了一份虚假的财产登记表。

C.某教授主张宗教团体有义务从事慈善事业，但他自己却拒绝捐款救助索马里难民。

D.某汽车商主张和国外进行汽车自由贸易，以有利于本国经济的发展，但他却要求本国政府限制外国制造的汽车进口。

E.某军事战略家认为核战争足以毁灭人类，但主张本国保持足够的核能力以抵御外部可能的核袭击。

【解析】

1.本题涉及知识点：

本题考查概念的内涵与外延。

2.技巧方法：

此类题的解题方法是通过根据题干给出的概念的定义，对比各个选项得出与题干符合的答案。

3.具体过程：

“别在我家门口”综合征的表现形式是“同一个主体对于同一件事情前后态度不一致”。题干对于盖监狱这个政策，同样的居民之前是支持的态度，之后是反对的态度。A 项中家长对于感染艾滋病病毒的孩子不能进入学校的前后态度是一致的。B 项中政客之前的态度是个人财产公开登记，之后他公开登记了自己的个人财产，前后态度一致。C 项中教授自己不是宗教团体，对象前后不一致，而且，拒绝援助索马里难民和捐助希望工程可能存在态度一致性。D 项中汽车商符合“前后态度不一致”的表现形式：在总体上，主张自由贸易，另一方面，当关系到自己时，又反对自由贸易。E 项中军事家的观点没有自相矛盾。“核战争足以毁灭人类”讲的是核战争的结果，军事家并没有表达对于核能力的态度。

故选 D。

2.如今，人们经常讨论职工下岗的问题，但也常常弄不清“下岗职工”的准确定义。《国家统计局（1997）261 号统计报表》的填表说明中对“下岗职工”的说明是：下岗职工是指由于企业的生产和经营状况等原因，已经离开本人的生产和工作岗位，并已不在本单位从事其他工作，

但仍与用人单位保留劳动关系的人员。

按照以上划分标准，以下哪项所描述的人员可以称为下岗职工？【E】

A.孟师傅原来在汽车制造厂工作，半年前辞去工作，开了一个汽车修理铺。

B.苏女士原来是某咨询公司的办公室秘书。最近，公司以经营困难为由，解除了她的工作合同，她只能在家做家务。

C.孙技工原来在手表厂工作，因长期疾病不能工作，经批准提前办理了退休手续。

D.姜裁缝原来在某服装厂工作，长期请病假。其实他的身体并不坏，目前在家里开了个缝纫部。

E.周先生原来在电视机厂工作，今年53岁。去年工厂因产品积压，人员富余，让50岁以上的人回家休息，等55岁时再办正式退休手续。

【解析】

1.本题涉及知识点：

本题考查概念的内涵与外延。

2.技巧方法：

此类题的解题方法是通过根据题干给出的概念的定义，对比各个选项得出与题干符合的答案。

3.具体过程：

根据题干中对“下岗职工”的描述，下岗职工需满足以下标准：①离开本人的生产和工作岗位的原因为企业的生产和经营状况等；②已不在本单位从事其他工作；③仍与用人单位保留劳动关系。由标准①排除A、D两项，由标准③排除B、C两项。

故选E。

3.根据学习在动机形成和发展中所起的作用，人的动机可分为原始动机和习得动机两种。原始动机是与生俱来的动机，它们是以人的本能需要为基础的，习得动机是指后天获得的各种动机，即经过学习产生和发展起来的各种动机。

根据以上陈述，以下哪项最可能属于原始动机？【D】

A.尊敬老人，孝敬父母。

B.尊师重教，崇文尚武。

C.不入虎穴，焉得虎子。

D.窈窕淑女，君子好逑。

E.宁可食无肉，不可居无竹。

【解析】

1.本题涉及知识点：

本题考查概念的内涵与外延。

2.技巧方法：

此类题的解题方法是通过根据题干给出的概念的定义，对比各个选项得出与题干符合的答案。

3.具体过程：

题干定义：原始动机是与生俱来的动机，它们是以人的本能需要为基础的。
A 项“尊敬老人，孝敬父母”是人需要后天学习产生和发展的动机，为习得动机。B 项“尊师重教，崇文尚武”是人需要后天学习产生和发展的动机，为习得动机。C 项“不入虎穴，焉得虎子”是后天获得的动机，为习得动机。D 项“窈窕淑女，君子好逑”是人的本能需要，为原始动机。E 项“宁可食无肉，不可居无竹”是后天获得的动机，为习得动机。
故选 D。

4.中星集团要招聘 20 名直接参加中层管理的职员。最不可能被招上的是学历在大专以下，或是完全没有管理工作实践经验的人；在有可能被招上的人中，懂英语或懂日语将大大增加这种可能性。
如果上述断定是真的，则以下哪项所言及的报名者最有可能被选上？【C】
A.张先生现年 40 岁，中专学历，毕业后一直没有放松学习，曾到京平大学经济管理学院进修过半年，收获很大。最近，他刚辞去已任职五年的华亭宾馆前厅经理的职务。
B.王女士是经济管理学院的副教授，硕士研究生学历，出版过管理学专著。出于收入的考虑，她表示如被招聘，将立即辞去现职。
C.陈小姐是经贸大学专科班的应届毕业生，在学校学习期间，曾任某商场业务部见习经理。
D.刘小姐是外国语学院 1995 年的本科毕业生，毕业后当过半年涉外导游和近两年专职翻译，精通英语和日语。
E.老孙曾是闻名遐迩的南方集团公司的老总，曾被誉为是无学历、无背景、白手起家的传奇式的企业家。南方集团的倒闭使他不得不从头做起。
【解析】
1.本题涉及知识点：
本题考查概念的内涵与外延。
2.技巧方法：
此类题的解题方法是通过根据题干给出的概念的定义，对比各个选项得出与题干符合的答案。
3.具体过程：
题干信息：①最不可能被招上的是学历在大专以下，或是完全没有管理工作实践经验的＝招上的人是学历在大专以上并且有管理工作经验的人（必须满足的条件）。②在有可能被招上的人中（说明条件 2 要服从 1），懂英语或懂日语（锦上添花的条件，有则更好，没有也可）将大大增加这种可能性。陈小姐学历在大专以上，又曾任见习经理，有管理经验，有可能被选上。那么根据①排除 A、E；然后在剩下的选项中，C 是最符合的。
故选 C。

5.概念的内涵是指概念所反映的事物具有的本质属性（或特有属性），它是从质的方面反映概念的。概念的外延是指具有概念所反映的本质属性（或特有属性）的那些事物，它是从量的方

面反映概念的。内涵和外延的反变关系是指具有属种关系的概念之间所具有的一种相互联系、相互制约的关系。一个概念的外延越大，它的内涵越少；一个概念外延越小，它的内涵越多。反之，一个概念的内涵越多，它的外延越小；一个概念内涵越少，它的外延越大。

根据上述定义，下列除了哪组概念均体现了概念内涵与外延的反变关系？【B】

A.三角形，等腰三角形，等边三角形。

B.人类，男人，女人。

C.男人，青年男人，青年男老师。

D.水杯，热水杯，大号热水杯。

E.司法机关，审判机关，最高人民法院。

【解析】

1.本题涉及知识点：

本题考查概念的内涵与外延的关系。概念的内涵和外延之间是反变关系，即一个概念的外延越大，它的内涵越少；一个概念外延越小，它的内涵越多。反之，一个概念的内涵越多，它的外延越小；一个概念内涵越少，它的外延越大。

2.技巧方法：

此类题的解题方法是通过根据题干给出的概念的定义，对比各个选项得出与题干符合的答案。

3.具体过程：

A 选项，三角形，等腰三角形，等边三角形，三者从左到右依次包含，满足反变关系，故排除。C 选项，男人，青年男人，青年男老师，三者从左到右依次包含，满足反变关系，故排除。D 选项中，水杯，热水杯，大号热水杯，三者从左到右依次包含，满足反变关系，故排除。E 选项，司法机关，审判机关，最高人民法院，三者从左到右依次包含，满足反变关系，故排除。而 B 选项，男人和女人没有包含关系，不满足反变关系。

故选 B。

6.鲁迅的著作不是一天能读完的，《狂人日记》是鲁迅的著作，因此，《狂人日记》不是一天能读完的。

下列哪项最为恰当地指出了上述推理的逻辑错误？【A】

A.偷换概念。

B.自相矛盾。

C.以偏概全。

D.倒置因果。

E.循环论证。

【解析】

1.本题涉及知识点：

本题考查集合概念与非集合概念。

判定集合概念与非集合概念的方法是：在这句话前面加上“每一个”，若该句意思发生变化，则属于集合概念，如：每一个人定胜天，显然不可能。所以，“人定胜天”中的“人”为集合概念。若该句意思没发生变化，则属于非集合概念，如：每一个人贵有自知之明，显然“人”这个集合中的每一个个体都满足“贵有自知之明”的属性。所以，“人贵有自知之明”中的“人”为非集合概念。

2.技巧方法：

此类题的解题方法是通过区分好题干和选项信息中的集合概念和非集合概念，从而结合题中信息解答。

3.具体过程：

“鲁迅的著作①不是一天能读完的，《狂人日记》是鲁迅的著作②”中①与②处“鲁迅的著作”字面相同，但外延完全不一样。前者为集合概念，包含鲁迅所有的著作；后者为非集合概念，特指《狂人日记》。

故选 A。

7.公达律师事务所以为刑事案件的被告进行有效辩护而著称，成功率达 90%以上。老余是一位以专门为离婚案件的当事人成功辩护而著称的律师。因此，老余不可能是公达律师事务所的成员。以下哪项最为确切地指出了上述论证的漏洞？【A】

A.公达律师事务所具有的特征，其成员不一定具有。

B.没有确切指出老余为离婚案件的当事人辩护的成功率。

C.没有确切指出老余为刑事案件的当事人辩护的成功率。

D.没有提供公达律师事务所统计数据的来源。

E.老余具有的特征，其所在工作单位不一定具有。

【解析】

1.本题涉及知识点：

本题考查集合概念与非集合概念。

判定集合概念与非集合概念的方法是：在这句话前面加上“每一个”，若该句意思发生变化，则属于集合概念，如：每一个人定胜天，显然不可能。所以，“人定胜天”中的“人”为集合概念。若该句意思没发生变化，则属于非集合概念，如：每一个人贵有自知之明，显然“人”这个集合中的每一个个体都满足“贵有自知之明”的属性。所以，“人贵有自知之明”中的“人”为非集合概念。

2.技巧方法：

此类题的解题方法是通过区分好题干和选项信息中的集合概念和非集合概念，从而结合题中信息解答。

3.具体过程：

上述论证的逻辑是：公达律师事务所具有某种特征而老余不具有，因此，老余不是公达律师事

务所的成员。这一论证的漏洞是集合体误用，选项 A 正确地指出了这一点。B，C，D，E 无关。故选 A。

8.阅读题干中的对话并回答问题。

甲：什么是战争？

乙：战争是和平的中断。

甲：什么是和平？

乙：和平是战争的中断。

上述对话中的逻辑谬误也类似地存在于以下哪项对话中？【B】

A.甲：什么是人？乙：人是有思想的动物。甲：什么是动物？乙：动物是生物的一部分。

B.甲：什么是生命？乙：生命是有机体的新陈代谢。甲：什么是有机体？乙：有机体是有生命的个体。

C.甲：什么是家庭？乙：家庭是以婚姻、血缘或收养关系为基础的一种社会群体。甲：什么是社会群体？乙：社会群体是在一定社会关系基础上建立起来的社会单位。

D.甲：什么是命题？乙：命题就是用语句表达的判断。甲：什么是判断？乙：判断是对事物有所断定的思维形式。

E.甲：什么是商品？乙：商品是为交换生产的劳动产品。甲：什么是劳动产品？乙：劳动产品是价值的载体。

【解析】

1.本题涉及知识点：

本题考查概念的定义及规则。

定义分为“被定义项”，“定义联项”和“定义项”，“被定义项”是指需要解释的词项，“定义联项”通常指“是”，而“定义项”指揭示定义项内涵的词项。如“平面上的圆是指到平面上一个定点的距离为固定的常数的点的集合”，其中“平面上的圆”就是“被定义项”，“是”即为“定义联项”，“到平面上一个定点的距离为固定的常数的点的集合”即为“定义项”。

定义的规则：

规则	常见逻辑谬误	示例
被定义项的外延等于定义项的外延	定义过窄 被定义项外延大于定义项外延	商品是用货币交换的劳动产品。 （除了货币交换之外还有物物交换）
	定义过宽 被定义项外延小于定义项外延	商品是劳动产品。 （不用作交换的劳动产品不是商品）
定义项不得直接或间接包含被定义项	同语反复 定义项直接包含被定义项	心理学是研究心理的科学。
	循环定义 定义项间接包含被定义项	“战争是两次和平之间的间歇。和平是两次战争之间的间歇。”

规则	常见逻辑谬误	示例
定义项中不得有含混的词语，不能用比喻	/	儿童是祖国的花朵。
定义项中不得包含负概念	/	男人就是不是女人的人。

2. 技巧方法：

此类题的解题方法是通过根据题干给出的概念的定义，对比各个选项得出与题干符合的答案。

3. 具体过程：

题干的对话中，被定义项是“战争”，定义项中包括“和平”，而“和平”又由“战争”定义，因此，定义项中间接包含被定义项，这就是循环定义。

只有在 B 项中，类似地，“生命”由“有机体”定义，而“有机体”又由“生命”定义，因此，同样为循环定义。而剩下的 A，C，D，E 均没有循环定义。

故选 B。

9. 我最爱阅读外国文学作品，英国的、法国的、古典的，我都爱读。

上述陈述在逻辑上犯了哪些错误？【A】

A. 划分外国文学作品的标准混乱，前者按国家，后者是按时代。

B. 外国文学作品，没有分是诗歌、小说还是戏剧。

C. 没有说最喜欢什么。

D. 没有说是外国原版还是翻译本。

E. 在“古典的”后面，没有紧接着指出“现代的”。

【解析】

1. 本题涉及知识点：

本题考查概念的划分。

划分的成分由母项和子项构成。

	母项	子项
含义	被划分的类（集合）	划分所得的若干小类（真子集）
举例	整数	正整数、负整数和零

划分的根据是指划分所依据的属性或标准。

划分的规则如下：

规则	常见逻辑谬误	示例
各子项的外延之和等于母项的外延	多出子项 各子项的外延之和大于母项外延	三代内直系亲属包括父母、配偶、子女、兄弟和姐妹。 （兄弟、姐妹不属于三代内直系亲属）

规则	常见逻辑谬误	示例
	划分不全 各子项的外延之和小于母项外延	三代内直系亲属包括父母和子女。 （显然还缺少“配偶、祖父母/外祖父母、孙子女/外孙子女”这些直系亲属）
各子项不能有交叉关系	子项相容	人分为男人、女人、好人和坏人。 （显然四个子项之间存在交叉关系）
每次划分必须使用同一划分标准	混淆划分错误	人分为中国人、泰国人、男人、女人。 （中国人、泰国人是按国籍划分，而男人、女人是按照性别来划分）

2. 技巧方法：

此类题的解题方法是通过根据题干给出的概念的定义，根据划分的规则，对比各个选项得出与题干符合的答案。

3. 具体过程：

题干中对外国文学作品进行划分，其中“英国的”“法国的”是按国家划分，“古典的”是按照时代划分，划分标准不统一。

故选 A。

10. 除非像给违反交通规则的机动车一样出具罚单，否则在交通法规中禁止自行车闯红灯是没有意义的。因为一项法规要有意义，必须能有效制止它所禁止的行为。但是上述法规对于那些经常闯红灯的骑车者来说显然没有约束力，而对那些习惯于遵守交通法规的骑车者来说，即使没有这样的法规，他们也不会闯红灯。

以下哪项最为恰当地指出了上述论证的漏洞？【D】

A. 不当地假设大多数机动车驾驶员都遵守禁止闯红灯的交通法规。

B. 在前提和结论中对“法规”这一概念的含义没有保持同一。

C. 忽视了这种可能性：一个法规若运用过于严厉的惩戒手段，即使有效地制止了它所禁止的行为，也不能认为是有意义的。

D. 没有考虑上述法规对于有时但并不经常闯红灯的骑车者所产生的影响。

E. 没有论证闯红灯对于公共交通的危害。

【解析】

1. 本题涉及知识点：

本题考查概念间的关系。

关系		含义	举例	区别
相容关	同一关系	**两个或多个概念之间，外延完全相同，**具有同一关系的概念叫同一概念。	“广州”与“广东的省会”	外延全部重合

关系		含义	举例	区别
系	包含关系	一个概念的部分外延是另一个概念外延的全部，包含关系也叫属种关系。	“研究生”与“硕士研究生”	外延一部分和全部重合
	交叉关系	**一个概念的部分外延只与另一个概念的部分外延重合（包含是一种特殊的交叉关系）**，具有交叉关系的概念叫交叉概念。	“优秀青年”和“工程师”	外延一部分只与一部分重合
不相容关系	矛盾关系	**两个概念的外延互相排斥，而外延之和等于邻近的属概念的外延**，具有矛盾关系的两个概念叫“矛盾概念”。	“金属”与“非金属”	相交是空集 相并是全集
	反对关系（对立关系）	**概念的外延互相排斥，它们的外延之和小于邻近的属概念的外延**，具有反对关系的概念叫反对概念，也叫对立概念。	“黑色”与“红色”	相交是空集 相并非全集

2. 技巧方法：

此类题的解题方法是通过根据题干给出的概念的定义，对比各个选项得出与题干符合的答案。

3. 具体过程：

第一步整理题干信息。前提：法规对于“经常闯红灯”的人没有约束力，法规对于“习惯于遵守交通法规（从不闯红灯）”的人没有约束力。一结论：法规没有意义（没能禁止所有的行为）。

第二步分析题干论证。题干是然犯了“非黑即白”的错误，“经常闯红灯”和“从不闯红灯”属于反对关系，而非矛盾关系，忽略了还有“偶尔闯红灯的人”的行为。考生需注意，对集合中要素要考虑全面。A，B，C，E 则无关。

故选 D。

11. 在某校新当选的校学生会的 7 名委员中，有 1 个大连人，2 个北方人，1 个福州人，2 个特长生（即有特殊专长的学生），3 个贫困生（即有特殊经济困难的学生）。

假设上述介绍涉及该学生会中的所有委员，则以下各项关于该学生会委员的断定都与题干不矛盾，除了：【A】

A. 2 个特长生都是贫困生。

B. 贫困生不都是南方人。

C. 特长生都是南方人。

D. 大连人是特长生。

E. 福州人不是贫困生。

【解析】

1.本题涉及知识点：

本题考查概念关系的计算。

此类题的标志是题干中出现N个人，会给出这些人的身份、职业、籍贯等信息。

2.技巧方法：

此类题的解题方法是通过根据题干给出的概念，判断题干中几个概念间的关系（如矛盾、反对关系等），根据概念之间的关系，结合题干中的数量进行计算求解。

3.具体过程：

题干信息从地域、是否是特长生、是否是贫困生这三个维度对校学生会学生进行描述，可列出如下：

地域：北方人2（含大连人1）【注意：北方人与大连人是包含关系】，福州人1。特长：特长生2。贫困：贫困生3。

假定上述概念不相容，则最多涵盖8个人（地域3＋特长2＋贫困3），所以要满足题干所描述的7个人，则有一个人需具有两个属性（比如：既是特长生又是贫困生）。此题需要选与题干断定矛盾的选项，如果A选项为真，则有两个人都具有两个属性，则题干最多只能介绍6个人，与断定矛盾，正确。

B选项：贫困生与南方人的重合情况未知，与题干信息不矛盾，排除。

C选项：即使特长生都是南方人，也不一定就是福州人，即使是福州人，也只有一人具有两个属性，与题干信息不矛盾，排除。

D选项：只有一个人具有两个属性，符合题干所描述的7个人，不矛盾，排除。

E选项：表明福州人不具有两个属性，与题干信息不矛盾，排除。

故选A。

12.某地召开有关《红楼梦》的小型学术研讨会。与会者中，4个是北方人，3个是黑龙江人，1个是贵州人，3个是作家，2个是文学评论家，1个是男性。以上提到的是全体与会者。

根据以上陈述，参加该研讨会的最少可能有几人？最多可能有几人？【B】

A.最少可能有4人，最多可能有6人。

B.最少可能有5人，最多可能有11人。

C.最少可能有6人，最多可能有14人。

D.最少可能有8人，最多可能有10人。

E.最少可能有2人，最多可能有12人。

【解析】

1.本题涉及知识点：

本题考查概念关系的计算。

此类题的标志是题干中出现N个人，会给出这些人的身份、职业、籍贯等信息。

2. 技巧方法：

此类题的解题方法是通过根据题干给出的概念，判断题干中几个概念间的关系（如矛盾、反对关系等），根据概念之间的关系，结合题干中的数量进行计算求解。

3. 具体过程：

题干信息从地域、职业、性别这三个维度对该研讨会与会者进行描述，可列示如下：地域：北方人 4（含黑龙江人 3），贵州人 1。北方人与贵州人不相容，所以从地域角度来看人数是 5 人。职业：作家 3，文学评论家 2。作家与文学评论家可以相容也可以不相容，如果文学评论家都同时是作家，那么从职业角度来看有 3 人：如果文学评论家都不是作家，那么从职业角度来看有 5 人。综上分析，从职业角度来看人数范围是 3-5 人。性别：男性 1。假定上述概念不相容，则最多可能有 11 个人（地域 5＋职业 5＋性别 1）。假定地域、职业、性别相容，则最少可能有 5 个人。

故选 B。

13. 在某个饭店中，一桌人边用餐边谈生意。其中，1 个人是哈尔滨人，2 个人是北方人，1 个人是广东人，2 个人只做电脑生意，3 个人只做服装生意。假设以上的介绍涉及这餐桌上所有的人，那么，这一餐桌上最少可能是几个人？最多可能是几个人？【B】

A. 最少可能是 3 人，最多可能是 8 人。

B. 最少可能是 5 人，最多可能是 8 人。

C. 最少可能是 5 人，最多可能是 9 人。

D. 最少可能是 3 人，最多可能是 9 人。

E. 无法确定。

【解析】

1. 本题涉及知识点：

本题考查概念关系的计算。

此类题的标志是题干中出现 N 个人，会给出这些人的身份、职业、籍贯等信息。

2. 技巧方法：

此类题的解题方法是通过根据题干给出的概念，判断题干中几个概念间的关系（如矛盾、反对关系等），根据概念之间的关系，结合题干中的数量进行计算求解。

3. 具体过程：

题干信息从地域、职业两个角度对人员进行描述，可列示如下：地域：北方人 2（哈尔滨人 1）、广东人 1，共 3 人。职业：只做电脑生意 2、只做服装生意 3，共 5 人。若地域与职业身份重叠，可得出最少人数：5 人。若地域与职业身份完全不重叠，可得出最多人数：3＋5＝8 人。

故选 B。

14.某架直升机上有 9 名乘客，其中有 1 名科学家，2 名企业家，2 名律师，3 名美国人，4 名中国人。

补充以下哪一项，能够解释题干中提到的总人数和不同身份的人数之间的不一致？【C】

A.那位科学家和其中的 1 名美国人是夫妻。

B.其中 1 名企业家的产品主要出口到美国。

C.2 名企业家都是中国人，另有 1 名企业家是律师。

D.其中 1 名律师是其中 1 名企业家的法律顾问。

E.科学家不是美国人。

【解析】

1.本题涉及知识点：

本题考查概念关系的计算。

此类题的标志是题干中出现 N 个人，会给出这些人的身份、职业、籍贯等信息。

2.技巧方法：

此类题的解题方法是通过根据题干给出的概念，判断题干中几个概念间的关系（如矛盾、反对关系等），根据概念之间的关系，结合题干中的数量进行计算求解。

3.具体过程：

题干信息：

①直升机上有 9 名乘客；

②1 名科学家＋2 名企业家＋2 名律师＋3 名美国人＋4 名中国人＝12 个身份。①与②显然存在矛盾，12 个人的身份必须要有重合。A 选项中的夫妻关系说明“美国人”和“科学家”是两个身份，两者可能重合，也可能不重合，不能解释；淘汰。B 项：企业家产品出口美国，并不意味企业家与美国人间有身份重合；淘汰。C 项指出中国人和企业家的交集为 2，那么信息②中各种人的总和就变成了 10，又有企业家和律师的交集是 1，那么信息②中总人数恰好是 9；正确。D 项：律师是企业家法律顾问，并不意味律师与企业家间有身份重合；淘汰。E 项：科学家不是美国人，更不涉及身份重合；淘汰。

注意：由题干信息①与②间存在的矛盾可知，12 个人的身份必须要有重合，且重合为 3 人。只有 C 选项涉及 3 人，其他选项即便涉及身份重合，其重合的数目也不足以解释题干中的矛盾。考生可以直接快选 C 选项。

故选 C。

15.某单位采购了一批图书，包括科学和人文两大类、具体情况如下：

（1）哲学类图书都是英文版的；

（2）部分文学类图书不是英文版的；

（3）历史类图书都是中文版的；

（4）没有一本书是中英双语版的；

（5）科学类图书既有中文版的，也有英文版的；

（6）人文类图书既有哲学类的，也有文学类的，还有历史类的。

根据以上信息，关于该单位采购的这批图书，可以得出以下哪项？【B】

A. 有些文学类图书是中文版的。

B. 有些历史类图书不属于哲学类。

C. 英文版图书比中文版图书数量多。

D. 有些图书既属于哲学类也属于科学类。

E. 有些图书既属于文学类也属于历史类。

【解析】

1. 本题涉及知识点：

本题考查欧拉图。

我们用两个圆分别表示 A 的外延和 B 的外延，就可以用图示的方法直观地表示两个概念外延间的关系。这种图称为欧拉图。

以上提到的 5 种关系以及对应的欧拉图表示如下：

关系	欧拉图表示
同一关系	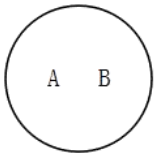
包含关系（属种关系）	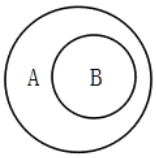
交叉关系	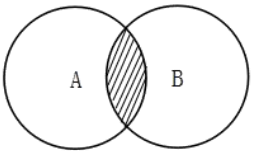
矛盾关系	
反对关系	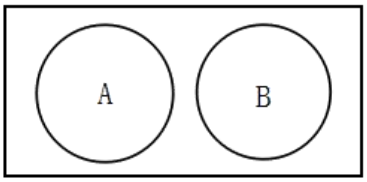

2. 技巧方法：

此类题的解题方法是通过根据题干给出的概念，判断题干中几个概念间的关系（如矛盾、反对关系等），根据概念之间的关系，画出欧拉图，对比各个选项得出与题干符合的答案。

3.具体过程：

由（1）（3）（4）可以画出以下欧拉图：

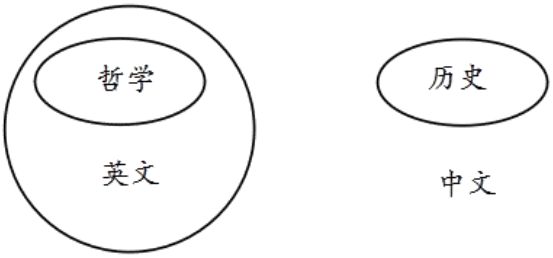

由图可得出“有些历史类图书不属于哲学类”。A，C，D，E 均无法得出。

故选 B。

16.某大学寝室中住着若干学生。其中，一个是哈尔滨人，两个是北方人，一个是广东人，两个在法律系，三个是进修生。因此，该寝室中恰好有 8 人。

以下选项关于该寝室的断定是真的，都能加强上述论证，除了：【B】

A.题干中的介绍涉及了寝室中所有的人。

B.广东学生在法律系。

C.哈尔滨学生在财经系。

D.进修生都是南方人。

E.该校法律系不招收进修生。

【解析】

1.本题涉及知识点：

本题考查欧拉图。

我们用两个圆分别表示 A 的外延和 B 的外延，就可以用图示的方法直观地表示两个概念外延间的关系。这种图称为欧拉图。

以上提到的 5 种关系以及对应的欧拉图表示如下：

关系	欧拉图表示
同一关系	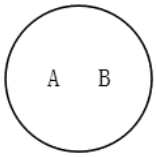
包含关系（属种关系）	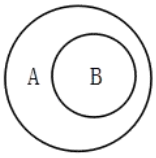
交叉关系	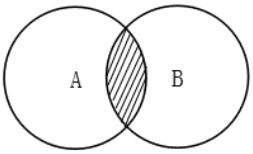

关系	欧拉图表示
矛盾关系	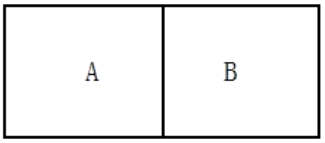
反对关系	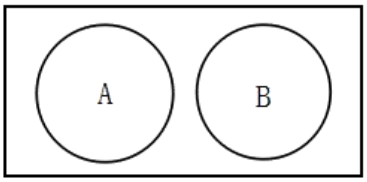

2. 技巧方法：

此类题的解题方法是通过根据题干给出的概念，判断题干中几个概念间的关系（如矛盾、反对关系等），根据概念之间的关系，画出欧拉图，对比各个选项得出与题干符合的答案。

3. 具体过程：

如果广东学生在法律系，则该寝室中就只有 7 个人了。该题可用图解法分析如下：

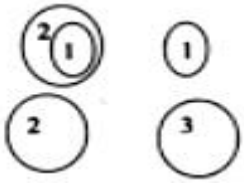

从上述图解来看，只有在上述在每两个概念之间全都两两排斥（除了 1 个“哈尔滨人”必须真包含于 2 个“北方人”内之外）时，该寝室中恰好有 8 人。如果其中的 1 个广东人又是在法律系的话，则该寝室最多就只能有 7 人，这样就出现了矛盾，所以 B 项肯定不能加强题干论证。C 项中说哈尔滨人在财经系，即不在法律系，加强了题干论证；D 项说进修生都是南方人，不一定就是广东人，有可能加强题干论证；E 项和 A 项也都加强了题干论证。

故选 B。

17. 除了吃川菜，张涛不吃其他菜肴。所有林村人都爱吃川菜。川菜的特色为麻辣香，其中有大量的干鲜辣椒、花椒、大蒜、姜、葱、香菜等调料。大部分吃川菜的人都喜好一边吃川菜，一边喝四川特有的盖碗茶。

如果上述断定为真，则以下哪项一定为真？【A】

A. 所有林村人都爱吃麻辣香的食物。

B. 所有林村人都喝四川出产的茶。

C. 大部分林村人喝盖碗茶。

D. 张涛喝盖碗茶。

E. 张涛是四川人。

【解析】

1. 本题涉及知识点：

本题考查欧拉图。

我们用两个圆分别表示 A 的外延和 B 的外延，就可以用图示的方法直观地表示两个概念外延间的关系。这种图称为欧拉图。

以上提到的 5 种关系以及对应的欧拉图表示如下：

关系	欧拉图表示
同一关系	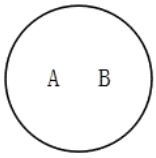
包含关系（属种关系）	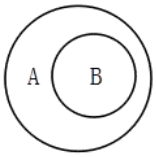
交叉关系	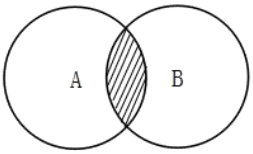
矛盾关系	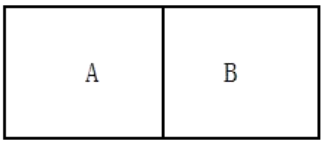
反对关系	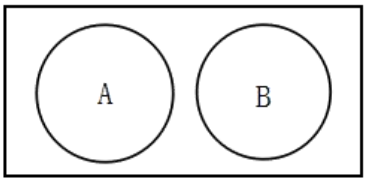

2. 技巧方法：

此类题的解题方法是通过根据题干给出的概念，判断题干中几个概念间的关系（如矛盾、反对关系等），根据概念之间的关系，画出欧拉图，对比各个选项得出与题干符合的答案。

3. 具体过程：

题干给出了 3 个简单句；“所有林村人都爱吃川菜”；“川菜都是麻辣香的食物”；“大部分吃川菜的人都喜好喝盖碗茶。”这里共涉及 4 个概念，分别表示为：a＝林村人；b＝爱吃川菜；c＝麻辣香的食物；d＝喜好喝盖碗茶。图解如下：

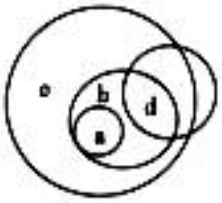

从上图可以看出，A 项必定是真的。C 项不一定真，因为虽然大部分喜欢吃川菜的人都喜好喝盖碗茶，但推不出林村人的大部分都喜好喝盖碗茶。故选 A。

18. 超过 20 年使用期限的汽车都应当报废。某些超过 20 年使用期限的汽车存在不同程度的设计缺陷，在应当报废的汽车中有一些不是 H 国进口车。所有的 H 国进口车都不存在设计缺陷。如果上述断定为真，以下哪项一定为真？【C】

A. 有些 H 国进口车不应当报废。

B. 有些 H 国进口车应当报废。

C. 有些存在设计缺陷的汽车应当报废。

D. 所有应当报废的汽车的使用期限都超过 20 年。

E. 有些超过 20 年使用期限的汽车不应当报废。

【解析】

1. 本题涉及知识点：

本题考查欧拉图。

我们用两个圆分别表示 A 的外延和 B 的外延，就可以用图示的方法直观地表示两个概念外延间的关系。这种图称为欧拉图。

以上提到的 5 种关系以及对应的欧拉图表示如下：

关系	欧拉图表示
同一关系	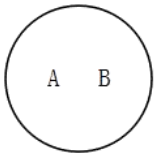
包含关系（属种关系）	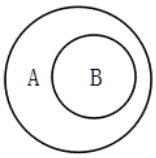
交叉关系	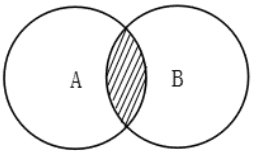
矛盾关系	
反对关系	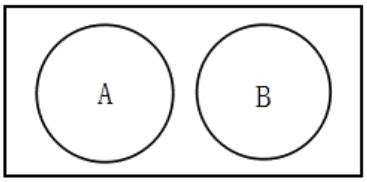

2. 技巧方法：

此类题的解题方法是通过根据题干给出的概念，判断题干中几个概念间的关系（如矛盾、反对关系等），根据概念之间的关系，画出欧拉图，对比各个选项得出与题干符合的答案。

3. 具体过程：

题干主要断定有：①所有超过 20 年使用期限的汽车都应当报废；②有些超过 20 年使用期限的汽车存在不同程度的设计缺陷；③所有 H 国进口车都不存在设计缺陷。分别用 a 表示“使用 20 年期限的汽车”，b 表示“应当报废”，c 表示“存在设计缺陷”，d 表示“H 国进口车”。则题干断定之间的关系可以图示如下：

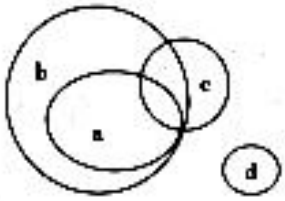

根据上图，C 项一定真。其他选项都不一定真。

故选 C。

19. 在中国北部有这样两个村落，赵村所有的人都是在白天祭祀祖先，李庄所有的人都是在晚上才祭祀祖先，我们确信没有既在白天也在晚上祭祀祖先的人。我们也知道李明是晚上祭祀祖先的人。

依据以上信息，能断定以下哪项是对李明身份的正确判断？【B】

A. 李明是赵村的人。

B. 李明不是赵村的人。

C. 李明是李庄的人。

D. 李明不是李庄的人。

E. 李明既不是赵村的人，也不是李庄的人。

【解析】

1. 本题涉及知识点：

本题考查欧拉图。

我们用两个圆分别表示 A 的外延和 B 的外延，就可以用图示的方法直观地表示两个概念外延间的关系。这种图称为欧拉图。

以上提到的 5 种关系以及对应的欧拉图表示如下：

关系	欧拉图表示
同一关系	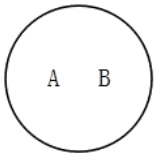
包含关系（属种关系）	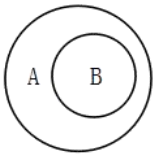

关系	欧拉图表示
交叉关系	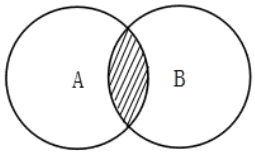
矛盾关系	
反对关系	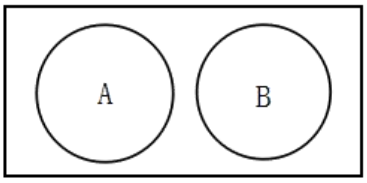

2. 技巧方法：

此类题的解题方法是通过根据题干给出的概念，判断题干中几个概念间的关系（如矛盾、反对关系等），根据概念之间的关系，画出欧拉图，对比各个选项得出与题干符合的答案。

3. 具体过程：

题干给出了 4 个简单句，涉及 5 个概念，分别表示为；a＝赵村人；b＝白天祭祀祖先；c＝李庄人；d＝晚上祭祀祖先；e＝李明。图解如下：

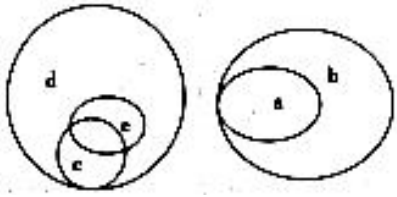

从上图可以看出，李明一定不是赵村的人。C、D、E 三项仅仅可能真。

故选 B。

20. 大多数人都熟悉安徒生童话《皇帝的新衣》，故事中有两个裁缝告诉皇帝，他们缝制出的衣服有一种奇异的功能：凡是不称职的人或者愚蠢的人都看不见这衣服。以下各项陈述都可以从裁缝的断言中逻辑地推出，除了：【D】

A. 凡是不称职的人都看不见这衣服。

B. 有些称职的人能看见这衣服。

C. 凡是能看见这衣服的人都是称职的人或者不愚蠢的人。

D. 凡是看不见这衣服的人都是不称职的人或者愚蠢的人。

E. 有些能看见这衣服的人是称职的。

【解析】

1. 本题涉及知识点：

本题考查欧拉图。

我们用两个圆分别表示 A 的外延和 B 的外延，就可以用图示的方法直观地表示两个概念外延间的关系。这种图称为欧拉图。

以上提到的 5 种关系以及对应的欧拉图表示如下：

关系	欧拉图表示
同一关系	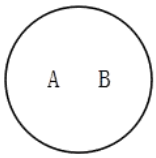
包含关系（属种关系）	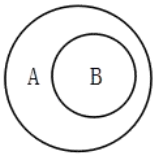
交叉关系	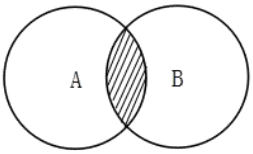
矛盾关系	
反对关系	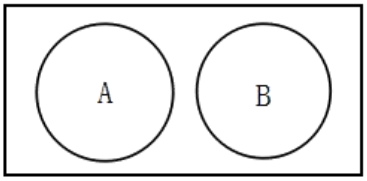

2. 技巧方法：

此类题的解题方法是通过根据题干给出的概念，判断题干中几个概念间的关系（如矛盾、反对关系等），根据概念之间的关系，画出欧拉图，对比各个选项得出与题干符合的答案。

3. 具体过程：

题干断定“凡是不称职的人或者愚蠢的人都看不见这衣服”，可以推出所有不称职的人都看不见这衣服。这句话通过变形推理，可以得到：所有能看见这衣服的人都是称职的。可以图解如下：

从上图可知，A、B、C、E 四项都能推出来。只有 D 项不能推出来。

故选 D。

21.某重点中学的学生中，有的是共青团员，有的不仅是共青团员，而且是校学生会干部。所有的共青团员都是成绩良好的学生，所有成绩良好的学生都只遵守学校的规定。

如果上述断定为真，以下哪项不一定为真？【C】

A.该校有的学生只遵守学校规定。

B.该校有的学生既遵守学校规定，又是共青团员。

C.该校有些只遵守学校规定的成绩良好的学生不是共青团员。

D.该校有些成绩良好的学生是共青团员。

E.该校凡是成绩不良好的都不是共青团员。

【解析】

1.本题涉及知识点：

本题考查欧拉图。

我们用两个圆分别表示A的外延和B的外延，就可以用图示的方法直观地表示两个概念外延间的关系。这种图称为欧拉图。

以上提到的5种关系以及对应的欧拉图表示如下：

关系	欧拉图表示
同一关系	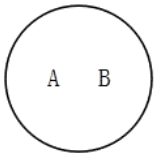
包含关系（属种关系）	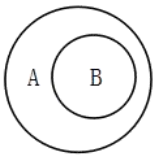
交叉关系	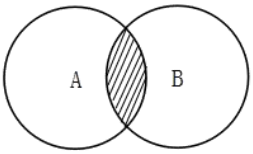
矛盾关系	
反对关系	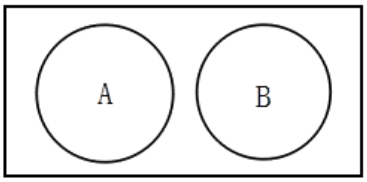

2.技巧方法：

此类题的解题方法是通过根据题干给出的概念，判断题干中几个概念间的关系（如矛盾、反对关系等），根据概念之间的关系，画出欧拉图，对比各个选项得出与题干符合的答案。

3.具体过程：

首先将题干中的已知条件图解如下：

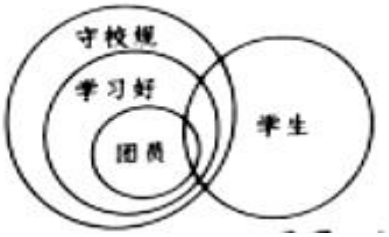

根据上述图解，可知：A、B、D、E 四项都一定真，C 项不一定真，因为共青团员、成绩好和遵校规这三个概念之间还可能是同一关系，即完全重合。

故选 C。

22.藏獒是世界上最勇猛的狗，一只壮年的藏獒能与 5 只狼搏斗，所有的藏獒都对自己的主人忠心耿耿，而所有忠实于自己主人的狗也为人所珍爱。

如果以上陈述为真，以下陈述都必然为真，除了：【A】

A.有些为人所珍爱的狗不是藏獒。

B.任何不为人所珍爱的狗不是藏獒。

C.有些世界上最勇猛的狗为人所珍爱。

D.有些忠实于自己主人的狗是世界上最勇猛的狗。

E.有些忠实于自己主人的狗为人所珍爱。

【解析】

1.本题涉及知识点：

本题考查欧拉图。

我们用两个圆分别表示 A 的外延和 B 的外延，就可以用图示的方法直观地表示两个概念外延间的关系。这种图称为欧拉图。

以上提到的 5 种关系以及对应的欧拉图表示如下：

关系	欧拉图表示
同一关系	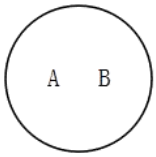
包含关系（属种关系）	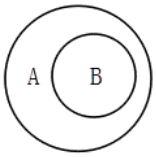

关系	欧拉图表示
交叉关系	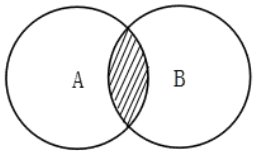
矛盾关系	
反对关系	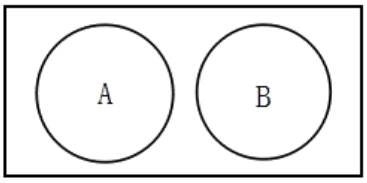

2. 技巧方法：

此类题的解题方法是通过根据题干给出的概念，判断题干中几个概念间的关系（如矛盾、反对关系等），根据概念之间的关系，画出欧拉图，对比各个选项得出与题干符合的答案。

3. 具体过程：

题干的已知条件可以图解如下：

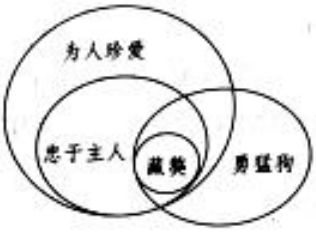

从上图可知，B、C、D、E 四项都必然真，只有 A 项不一定真，因为“为人所珍爱”“忠实于自己的主人”“藏獒”这三个概念的外延可能完全相同。

故选 A。

23. 某单位组织职工游览上海世博园。所有参观沙特馆的职工都未能参观德国馆。凡参观沙特馆的职工也未能参观日本馆。有些参观丹麦馆的职工参观了德国馆，有些参观丹麦馆的职工参观了日本馆，有些参观丹麦馆的职工参观了沙特馆。

如果以上陈述为真，下面哪项关于该单位职工的陈述必然为真？【C】

A. 有些参观了日本馆的职工未能参观德国馆。

B. 有些参观了德国馆的职工既没参观日本馆，也没有参观丹麦馆。

C. 有些参观了丹麦馆的职工既没有参观德国馆，也没有参观日本馆。

D. 所有参观丹麦馆的职工或参观了德国馆，或参观了日本馆，或参观了沙特馆。

E. 所有参观日本馆的职工都未参观德国馆。

【解析】

1. 本题涉及知识点：

本题考查欧拉图。

我们用两个圆分别表示 A 的外延和 B 的外延，就可以用图示的方法直观地表示两个概念外延间的关系。这种图称为欧拉图。

以上提到的 5 种关系以及对应的欧拉图表示如下：

关系	欧拉图表示
同一关系	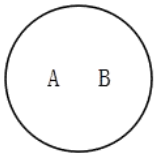
包含关系（属种关系）	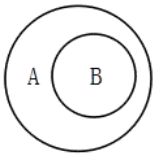
交叉关系	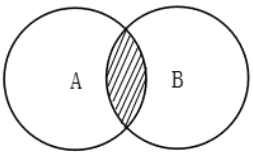
矛盾关系	
反对关系	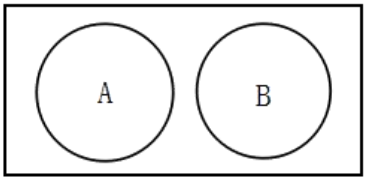

2. 技巧方法：

此类题的解题方法是通过根据题干给出的概念，判断题干中几个概念间的关系（如矛盾、反对关系等），根据概念之间的关系，画出欧拉图，对比各个选项得出与题干符合的答案。

3. 具体过程：

题干中的已知条件可以图解如下：

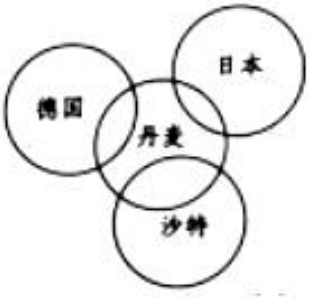

从上图可以看出，C 项一定真。A、B、D、E 四项都可能假。

故选 C。

24. 未来深海电缆的外皮是由玻璃制成的，而不是特殊的钢材或铝合金。原因是金属具有颗粒状的微观结构，在深海压力之下，粒子交结处的金属外皮易于断裂。玻璃外皮就不会有这种情况，因为玻璃看起来是固体，由于它在压力之下可以流动，所以可将之视为液体。

以下哪项最有可能从上述议论中推出？【A】

A. 液体没有颗粒状的微观结构。

B. 所有称之为固体的东西只不过是移动极其缓慢的液体。

C. 只有断裂的玻璃是微观粒状的。

D. 作为一种建筑材料，玻璃优于钢材和铝材。

E. 目前的深海电缆经常发生故障。

【解析】

1. 本题涉及知识点：

本题考查欧拉图。

我们用两个圆分别表示 A 的外延和 B 的外延，就可以用图示的方法直观地表示两个概念外延间的关系。这种图称为欧拉图。

以上提到的 5 种关系以及对应的欧拉图表示如下：

关系	欧拉图表示
同一关系	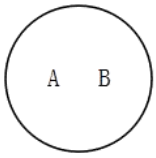
包含关系（属种关系）	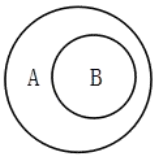
交叉关系	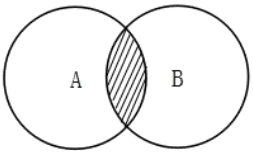
矛盾关系	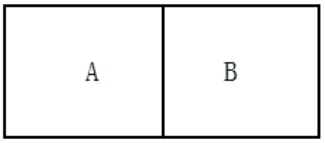
反对关系	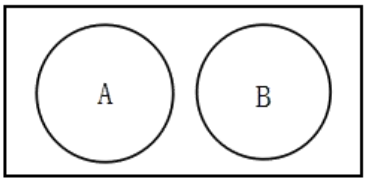

2. 技巧方法：

此类题的解题方法是通过根据题干给出的概念，判断题干中几个概念间的关系（如矛盾、反对关系等），根据概念之间的关系，画出欧拉图，对比各个选项得出与题干符合的答案。

3. 具体过程：

题干本身有前提也有结论，说明题干需要推出的是推论背后的假设。题干的结论是：玻璃没有颗粒状结构。前提是：玻璃是液体。要保证前提能推出结论，必须假设：液体没有颗粒状结构。注意，假设也是可以从题干推出来的结论。整个推论关系可以图解如下：

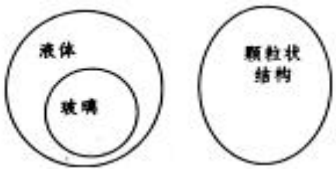

故选 A。

25. 权力是指促使或者阻碍方案通过的能力。例如，九个人组成的投票体，民主地决定各种议案，方案获得通过需要五票或五票以上，此时每个人的权力均等。一旦其中出现五个或五个以上的人结盟，那么其余的人实际上对于方案是否通过是无能为力的，即权力为 0。若九个人形成 4 个联盟，人数分别为三、三、二、一，每个联盟的权力不再相等。

根据上述权力的描述，由此推出以下哪项结论？【A】

A. 人数分别为三、三、二的联盟权力相等，人数为一的联盟权力为 0。

B. 若九个人形成 3 个联盟，这三个联盟的人数分别为四、三、二。

C. 若九个人形成 3 个联盟，各联盟所拥有的权力均等。

D. 人数分别为三、三、二的联盟权力相等，人数为一的联盟的权力为 1。

E. 若九个人形成的 3 个联盟，人数分别是四、四、一，则人数为一的联盟权力最小。

【解析】

1. 本题涉及知识点：

本题考查欧拉图。

我们用两个圆分别表示 A 的外延和 B 的外延，就可以用图示的方法直观地表示两个概念外延间的关系。这种图称为欧拉图。

以上提到的 5 种关系以及对应的欧拉图表示如下：

关系	欧拉图表示
同一关系	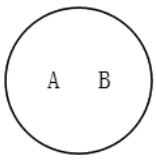

关系	欧拉图表示
包含关系（属种关系）	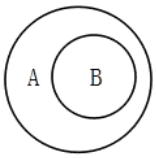
交叉关系	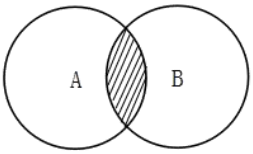
矛盾关系	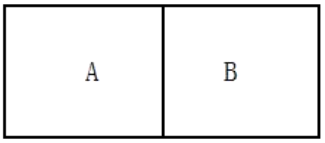
反对关系	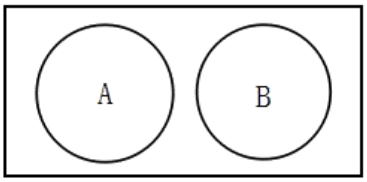

2. 技巧方法：

此类题的解题方法是通过根据题干给出的概念，判断题干中几个概念间的关系（如矛盾、反对关系等），根据概念之间的关系，画出欧拉图，对比各个选项得出与题干符合的答案。

3. 具体过程：

题干信息：①方案获得通过需要五票或五票以上，此时每个人的权力均等；②一旦其中出现五个或五个以上的人结盟，那么其余的人实际上对于方案是否通过是无能为力的，即权力为 0；③若九个人形成 4 个联盟，人数分别为三、三、二、一，每个联盟的权力不再相等。

选项 A 能从题干中推出，因为三、三、二的三个联盟任意两个联盟结盟都可以达到五人的标准，因此这三个联盟相互结盟的可能性是均等的，但是不会有人选择与一的联盟结盟，因为对于三、三、二的三个联盟而言，与一的联盟结盟并不能达到五票；正确。B 选项不必然推出，还可能存在三、三、三的可能。C 选项不必然推出，还可能存在六、二、一的可能，此时联盟的权力不相等。D 选项不必然推出，根据题干信息，此时人数为 1 的联盟的权力可能为 0，另外，题干没有权力为 1 的界定。E 选项不能推出，如果是四、四、一的三个联盟，那么三个联盟的权力应该是相等的，因为任意两个联盟都可以达到五票，那么大家的机会就是均等的，权力也是相等的。

故选 A。

直言判断

1.下列表述中是判断的是【C】

A.我吃过饭了，你呢？

B.今天天气怎么样？

C.难道这不是一个愚蠢的决定吗？

D.啊！北京！

E.这到底是怎么回事？

【解析】

1.本题涉及知识点：

本题考查判断的关系。

2.技巧方法：

此类题的解题方法是通过根据题干给出句式，对比各个选项得出与题干符合的答案。

3.具体过程：

A，B，E 选项都属于疑问句，没有真假性，D 属于感叹句同样没有真假值，只有 C 等价于“这就是一个愚蠢的决定”，有所断定且有真假值，故为判断。

故选 C。

2.并非所有出于良好愿望的行为都必然会导致良好的结果。

如果上述断定为真，则以下哪项断定必真？【D】

A.所有出于良好愿望的行为必然都不会导致良好的结果。

B.所有出于良好愿望的行为可能不会导致良好的结果。

C.有的出于良好愿望的行为不会导致良好的结果。

D.有的出于良好愿望的行为可能不会导致良好的结果。

E.有的出于良好愿望的行为一定不会导致良好的结果。

【解析】

1.本题涉及知识点：

本题考查有关“全称”的非标准化标准命题。

名称	标准式	公式表达	非标准形式
全称肯定判断	所有 S 都是 P	S→P	没有（一个）S 不（是）P
全称否定判断	所有 S 都不是 P	S→ ¬P	没有 S 是 P

2.技巧方法：

此类题的解题方法是通过根据题干给出的陈述，通过非标准形式化标准形式的口诀，将非标准形式化为标准形式，再对比各个选项得出与题干符合的答案。

3. 具体过程：

并非所有出于良好愿望的行为必然会导致良好的结果。

变　　有的　　可能　　不会导致

提示：“并非”作为否定词，否定了“所有”“必然”“会导致”，均变成对立面。

结果：并非所有出于良好愿望的行为都必然会导致良好的结果＝有的出于良好愿望的行为可能不会导致良好的结果。

故选 D。

3. 小华最近苦于学习效率不高，于是向其他同学求教学习方法，但所有人都无一例外地认为：一种方法能做出来书上所有的题，这样的万能方法是不可能存在的。

以下哪项最符合题干的断定？【E】

A. 任何方法都必然没有它做不出来的题。

B. 至少有一种方法必然做不出来书上所有的题。

C. 书上至少有一道题任何的方法都必然做不出来。

D. 至少有一种方法可能做不出来书上所有的题。

E. 所有方法都必然不能做出来书上有的题。

【解析】

1. 本题涉及知识点：

本题考查有关“全称”的非标准化标准命题。

名称	标准式	公式表达	非标准形式
全称肯定判断	所有 S 都是 P	S→P	没有（一个）S 不（是）P
全称否定判断	所有 S 都不是 P	S→ ¬P	没有 S 是 P

2. 技巧方法：

此类题的解题方法是通过根据题干给出的陈述，通过非标准形式化标准形式的口诀，将非标准形式化为标准形式，再对比各个选项得出与题干符合的答案。

3. 具体过程：

不可能　有的方法　能做出来　书上所有　的题。

变　必然　　所有　　不能做出来　　有的

提示：“不”作为否定词，否定了“可能”“有的”“能做出来”“所有”，均变成对立面。

结果：不可能有的方法能做出来书上所有的题＝必然所有方法不能做出来有的题。

故选 E。

4.所有真诚的人都不可能听信所有虚情假意的谎言，但有的虚伪的人一定不会听信所有真心实意的真话。

如果上述陈述为真，以下哪项最准确地表达了上述断定？【A】

A.所有真诚的人必然不会听信有的虚情假意的谎言，但所有真心实意的真话一定有虚伪的人不会听信。

B.一些真诚的人必然不会听信一些虚情假意的谎言，但有的虚伪的人可能不会听信有的真心实意的真话。

C.一些真诚的人可能听信所有虚情假意的谎言，但所有真心实意的真话一定有虚伪的人不会听信。

D.一些真诚的人可能听信一些虚情假意的谎言，但有的虚伪的人一定不会听信有的真心实意的真话。

E.所有真诚的人可能不会听信所有虚情假意的谎言，但所有真心实意的真话一定有虚伪的人不会听信。

【解析】

1.本题涉及知识点：

本题考查有关“全称”的非标准化标准命题。

名称	标准式	公式表达	非标准形式
全称肯定判断	所有 S 都是 P	S→P	没有（一个）S 不（是）P
全称否定判断	所有 S 都不是 P	S→ ¬P	没有 S 是 P

2.技巧方法：

此类题的解题方法是通过根据题干给出的陈述，通过非标准形式化标准形式的口诀，将非标准形式化为标准形式，再对比各个选项得出与题干符合的答案。

3.具体过程：

所有真诚的人都不可能 听信 所有虚情假意的谎言。

↓ ↓ ↘

变 必然 不听信 有的

提示：①“不”作为否定词，否定了“可能”“听信”“所有”，均变成对立面。故，所有真诚的人都不可能听信所有虚情假意的谎言＝所有真诚的人都必然不听信有的虚情假意的谎言。②有的虚伪的人一定不会听信所有真心实意的真话→所有真心实意的真话一定有虚伪的人不会听信。注意，有的 S 喜欢所有 P，可推出所有 P 都有 S 喜欢。

故选 A。

5.并非有些南方人不可能不喜欢吃辣椒。

以下哪项最接近于上述断定的含义？【A】

A.所有南方人都可能不喜欢吃辣椒。

B.所有南方人都可能喜欢吃辣椒。

C.所有南方人都必然不喜欢吃辣椒。

D.所有南方人都必然喜欢吃辣椒。

E.有些南方人必然不喜欢吃辣椒。

【解析】

1.本题涉及知识点：

本题考查“特称”的非标准化标准式。

名称	标准式	公式表达	非标准形式
特称肯定判断	有的 S 是 P	有的 S→P	S 不都不是 P
特称否定判断	有的 S 不是 P	有的 S→ ¬P	S 不都是 P

2.技巧方法：

此类题的解题方法是通过根据题干给出的陈述，通过非标准形式化标准形式的口诀，将非标准形式化为标准形式，再对比各个选项得出与题干符合的答案。

3.具体过程：

并非有些南方人不可能不喜欢吃辣椒。

（所有南方人）　　（不变）

提示：“有些南方人”前面只有一个否定词，要变对立面；“可能不喜欢吃辣椒”前面有两个否定词“并非”与“不”，双重否定等于肯定，不变。

结果：并非有些南方人不可能不喜欢吃辣椒＝所有南方人都可能不喜欢吃辣椒。

故选 A。

6.并非有的运动员有时竞技状态不好。

如果上述断定为真，则以下哪项必须为假？【C】

A.有时有的运动员竞技状态很好。

B.所有的运动员在某一时刻竞技状态都好。

C.并非所有运动员在任何时刻竞技状态都好。

D.某个运动员在所有时刻竞技状态都好。

E.每个运动员在任何时刻竞技状态都好。

【解析】

1.本题涉及知识点：

本题考查“特称”的非标准化标准式。

名称	标准式	公式表达	非标准形式
特称肯定判断	有的 S 是 P	有的 S→P	S 不都不是 P
特称否定判断	有的 S 不是 P	有的 S→ ¬P	S 不都是 P

2. 技巧方法：

此类题的解题方法是通过根据题干给出的陈述，通过非标准形式化标准形式的口诀，将非标准形式化为标准形式，再对比各个选项得出与题干符合的答案。

3. 具体过程：

本题考查直言命题的否定式。题干断定“并非有的运动员有时竞技状态不好”的意思就是，“所有的运动员在所有的时刻竞技状态都好”，E 项正好是这个意思，而 C 项则对此否定，显然是假的。

故选 C。

7. 东南大学某班级“财务成本会计”课程结束后，赵老师说：我们班同学并不都没有及格。如果赵老师的断定为真，则以下哪项一定为真？【B】

Ⅰ. 有的同学及格了。

Ⅱ. 所有同学都没有及格。

Ⅲ. 并非全班同学都没有及格。

Ⅳ. 并非有的同学没有及格。

A. Ⅰ和Ⅱ。

B. Ⅰ和Ⅲ。

C. Ⅱ和Ⅲ。

D. Ⅰ、Ⅱ和Ⅲ。

E. Ⅱ、Ⅲ和Ⅳ。

【解析】

1. 本题涉及知识点：

本题考查全称与特称之间的方阵推理。

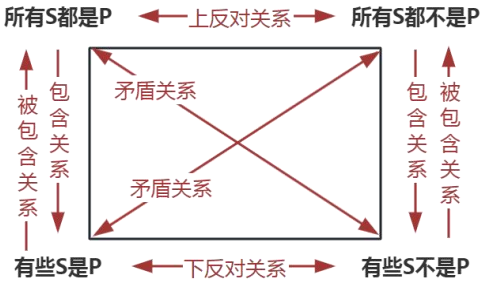

（1）矛盾关系

矛盾关系指方阵中对角线上的两个判断之间的关系。即：“所有 S 都是 P”和“有的 S 不是 P”；“所有 S 都不是 P”和“有的 S 是 P”。具有矛盾关系的两个判断，不能同时为真，也不能同时为假。

（2）反对关系

反对关系有两个，分别是上反对关系和下反对关系。

①上反对关系指方阵中上面两个判断之间的关系

即："所有 S 都是 P"和"所有 S 都不是 P"。具有上反对关系的两个判断，不能同时为真，但却可以同时为假。

②下反对关系指方阵中下面两个判断之间的关系

即："有的 S 是 P"和"有的 S 不是 P"。具有下反对关系的两个判断，不能同时为假，但却可以同时为真。

（3）包含关系

指方阵中上面的判断与下面对应的判断之间的关系。即："所有 S 都是 P"和"有的 S 是 P"；"所有 S 都不是 P"和"有的 S 不是 P"。

2. 技巧方法：

此类题的解题方法是通过根据题干给出的条件，结合对当方阵，找到对应的位置，再结合选项进行判断。

3. 具体过程：

根据题干已知，"我们班同学不都没有及格＝有的（S：同学）是（P：及格）"为真。Ⅰ选项＝有的 S 是 P，与题干一致，一定为真。Ⅱ选项＝所有 S 都不是 P，跟题干构成矛盾关系，一定为假。Ⅲ选项＝有的同学及格了，即有的 S 是 P，与题干一致，一定为真。Ⅳ选项＝所有同学都及格了，即所有 S 都是 P，与全称不构成矛盾关系的情况下，特称真无法推出全称真，不确定真假。

故选 B。

8. 某地区有些得到国家特殊政策的国有企业仍然未扭亏为盈，这让区委书记格外着急。以下哪项论断最符合以上论述的基本思想？【E】

A. 该地区得到国家特殊政策的国有企业都没有盈利，区委书记为此着急。

B. 该地区得到国家特殊政策的国有企业没有亏损，不需要扭亏，区委书记不必着急。

C. 该地区没有得到国家特殊政策的国有企业都有盈利，区委书记对它们放心。

D. 该地区的非国有企业都有盈利，即使没有盈利，区委书记也不着急。

E. 该地区所有不盈利的企业都让区委书记着急，尤其是其中的试点单位。

【解析】

1. 本题涉及知识点：

本题考查全称与特称之间的方阵推理。

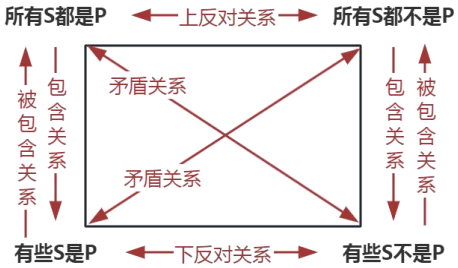

（1）矛盾关系

矛盾关系指方阵中对角线上的两个判断之间的关系。即："所有 S 都是 P"和"有的 S 不是 P"；"所有 S 都不是 P"和"有的 S 是 P"。具有矛盾关系的两个判断，不能同时为真，也不能同时为假。

（2）反对关系

反对关系有两个，分别是上反对关系和下反对关系。

①上反对关系指方阵中上面两个判断之间的关系

即："所有 S 都是 P"和"所有 S 都不是 P"。具有上反对关系的两个判断，不能同时为真，但却可以同时为假。

②下反对关系指方阵中下面两个判断之间的关系

即："有的 S 是 P"和"有的 S 不是 P"。具有下反对关系的两个判断，不能同时为假，但却可以同时为真。

（3）包含关系

指方阵中上面的判断与下面对应的判断之间的关系。即："所有 S 都是 P"和"有的 S 是 P"；"所有 S 都不是 P"和"有的 S 不是 P"。

2. 技巧方法：

此类题的解题方法是通过根据题干给出的条件，结合对当方阵，找到对应的位置，再结合选项进行判断。

3. 具体过程：

题干信息：①有的（S：得到国家特殊政策的国有企业）是（P：未扭亏为盈）。②题干态度：区委书记格外着急。第一步，根据题干态度可快速排除 B、C、D，这三个选项均为"不着急"，与题干态度不一致。第二步，A 选项虽然态度与题干一致，但属于"所有 S 都是 P"的形式，故不符合题干；E 选项态度与题干一致，形式为"有的 S 是 P"，与题干相符。考生注意，此时"尤其是其中的试点单位"就应理解为"有的国有企业（试点单位）未扭亏为盈（不盈利）"。故选 E。

9. 企鹅是鸟，但企鹅不会飞。

根据这个事实，以下哪项一定为假？【C】

A. 不会飞的鸟一定是企鹅。

B. 鸵鸟是鸟，但鸵鸟不会飞。

C. 不存在不会飞的鸟。

D. 会飞的动物都是鸟。

E. 有人认为企鹅会飞。

【解析】

1. 本题涉及知识点：

本题考查全称与特称之间的方阵推理。

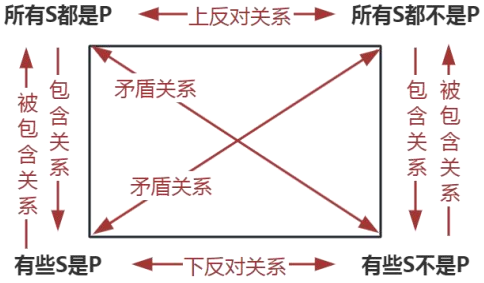

（1）矛盾关系

矛盾关系指方阵中对角线上的两个判断之间的关系。即："所有 S 都是 P"和"有的 S 不是 P"；"所有 S 都不是 P"和"有的 S 是 P"。具有矛盾关系的两个判断，不能同时为真，也不能同时为假。

（2）反对关系

反对关系有两个，分别是上反对关系和下反对关系。

①上反对关系指方阵中上面两个判断之间的关系

即："所有 S 都是 P"和"所有 S 都不是 P"。具有上反对关系的两个判断，不能同时为真，但却可以同时为假。

②下反对关系指方阵中下面两个判断之间的关系

即："有的 S 是 P"和"有的 S 不是 P"。具有下反对关系的两个判断，不能同时为假，但却可以同时为真。

（3）包含关系

指方阵中上面的判断与下面对应的判断之间的关系。即："所有 S 都是 P"和"有的 S 是 P"；"所有 S 都不是 P"和"有的 S 不是 P"。

2. 技巧方法：

此类题的解题方法是通过根据题干给出的条件，结合对当方阵，找到对应的位置，再结合选项进行判断。

3. 具体过程：

根据题干中的两个判断做前提，可以推出结论：有些鸟不会飞。C 项却断定"所有鸟都会飞"，与题干的断定相矛盾，所以一定为假。

故选 C。

10. 去年 4 月，股市出现了强劲反弹，某证券部通过对该部股民持仓品种的调查发现，大多数经验丰富的股民都买了小盘绩优股，而所有年轻的股民都选择了大盘蓝筹股，而所有买了小绩优股的股民都没买大盘蓝筹股。

如果上述情况为真，则以下哪项关于该证券部股民的调查结果也必定为真？【C】

Ⅰ. 有些年轻的股民是经验丰富的股民。

Ⅱ.有些经验丰富的股民没买大盘蓝筹股。

Ⅲ.年轻的股民都没买小盘绩优股。

A.只有Ⅱ。

B.只有Ⅰ和Ⅱ。

C.只有Ⅱ和Ⅲ。

D.只有Ⅰ和Ⅲ。

E.Ⅰ、Ⅱ和Ⅲ。

【解析】

1.本题涉及知识点：

本题考查全称与特称之间的方阵推理。

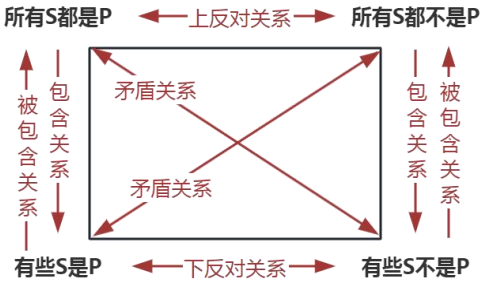

（1）矛盾关系

矛盾关系指方阵中对角线上的两个判断之间的关系。即："所有 S 都是 P"和"有的 S 不是 P"；"所有 S 都不是 P"和"有的 S 是 P"。具有矛盾关系的两个判断，不能同时为真，也不能同时为假。

（2）反对关系

反对关系有两个，分别是上反对关系和下反对关系。

①上反对关系指方阵中上面两个判断之间的关系

即："所有 S 都是 P"和"所有 S 都不是 P"。具有上反对关系的两个判断，不能同时为真，但却可以同时为假。

②下反对关系指方阵中下面两个判断之间的关系

即："有的 S 是 P"和"有的 S 不是 P"。具有下反对关系的两个判断，不能同时为假，但却可以同时为真。

（3）包含关系

指方阵中上面的判断与下面对应的判断之间的关系。即："所有 S 都是 P"和"有的 S 是 P"；"所有 S 都不是 P"和"有的 S 不是 P"。

2.技巧方法：

此类题的解题方法是通过根据题干给出的条件，结合对当方阵，找到对应的位置，再结合选项进行判断。

3.具体过程：

题干信息：①大多数经验丰富→小盘；②年轻→大盘；③小盘→¬大盘。由①③②传递可得：④大多数经验丰富→小盘→¬大盘→¬年轻。

复选项Ⅰ：有些年轻→经验丰富，由④可知，大多数经验丰富→¬年轻，只能推出“有些¬年轻⟹经验丰富”，但无法推出“有些年轻→经验丰富”，因此复选项Ⅰ不是必定为真。

复选项Ⅱ：有些经验丰富⟹¬大盘，由④可知，大多数经验丰富→¬大盘，由“大多数”可以推出“有些”，所以复选项Ⅱ正确。

复选项Ⅲ：年轻→¬小盘，由④可知，小盘→¬年轻＝年轻→¬小盘，所以复选项Ⅲ正确。

故选 C。

11.某科研机构对市民所反映的一种奇异现象进行研究，该现象无法用已有的科学理论进行解释。助理研究员小王由此断言，该现象是错觉。

以下哪项如果为真，最可能使小王的断言不成立？【A】

A.错觉都可以用已有的科学理论进行解释。

B.所有错觉都不能用已有的科学理论进行解释。

C.已有的科学理论尚不能完全解释错觉是如何形成的。

D.有些错觉不能用已有的科学理论进行解释。

E.有些错觉可以用已有的科学理论进行解释。

【解析】

1.本题涉及知识点：

本题考查全称与特称之间的方阵推理。

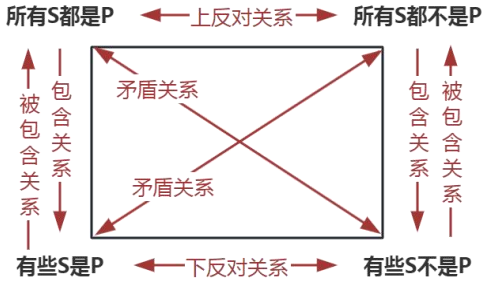

（1）矛盾关系

矛盾关系指方阵中对角线上的两个判断之间的关系。即：“所有 S 都是 P”和“有的 S 不是 P”；“所有 S 都不是 P”和“有的 S 是 P”。具有矛盾关系的两个判断，不能同时为真，也不能同时为假。

（2）反对关系

反对关系有两个，分别是上反对关系和下反对关系。

①上反对关系指方阵中上面两个判断之间的关系

即：“所有 S 都是 P”和“所有 S 都不是 P”。具有上反对关系的两个判断，不能同时为真，但却可以同时为假。

②下反对关系指方阵中下面两个判断之间的关系

即："有的 S 是 P"和"有的 S 不是 P"。具有下反对关系的两个判断，不能同时为假，但却可以同时为真。

（3）包含关系

指方阵中上面的判断与下面对应的判断之间的关系。即："所有 S 都是 P"和"有的 S 是 P"；"所有 S 都不是 P"和"有的 S 不是 P"。

2. 技巧方法：

此类题的解题方法是通过根据题干给出的条件，结合对当方阵，找到对应的位置，再结合选项进行判断。

3. 具体过程：

要想证明上述结论不成立，就要推出结论的矛盾关系，即该现象不是错觉。逻辑关系为：①该现象→¬解释；②该现象→¬错觉。

若 A 选项正确，错觉→解释＝¬解释→¬错觉，则可与①结合进行传递，从而得到：该现象→¬解释→¬错觉。

故选 A。

12. 一位校长在毕业典礼上，送给即将离开学校步入社会的大学生一句话。他说："世界上只有没出息的人，没有没出息的工作。"

根据校长的陈述，下列哪项不可能为真？【C】

Ⅰ. 世界上没有人没出息。

Ⅱ. 李华身强力壮却好吃懒做，成了无业游民，李华真没出息。

Ⅲ. 张珊身为堂堂大家闺秀，却去学唱戏，做一个戏子，真没出息。

Ⅳ. 世界上有没出息的工作。

A. 仅Ⅰ、Ⅱ。

B. 仅Ⅰ、Ⅲ。

C. 仅Ⅰ、Ⅲ、Ⅳ。

D. 仅Ⅱ、Ⅲ、Ⅳ。

E. Ⅰ、Ⅱ、Ⅲ、Ⅳ。

【解析】

1. 本题涉及知识点：

本题考查全称、特称与单称之间的真假关系。

（1）全称命题为真，特称和单称命题也都为真。

（2）单称命题为真，只能推出特称命题为真。

2. 技巧方法：

此类题的解题方法是通过根据题干给出的条件，结合对当方阵，找到对应的位置，再结合选项

进行判断。

3.具体过程：

题干信息：①世界上只有没有出息的人＝有的人是没有出息的信息；②没有没出息的工作＝所有的工作都是有出息的。Ⅰ一定为假，世界上没有人没出息＝世界上所有人都有出息，与①矛盾。Ⅱ结合信息①，由于“有的”为真时，“单称”不确定真假，故无法判断。Ⅲ一定为假，张珊做戏子的工作没出息，与②矛盾。Ⅳ一定为假，世界上有没出息的工作＝世界上有的工作没出息，与②矛盾。

故选C。

13.世界杯期间，法国足球队有替补队员参与了罢训事件。

如果上述判定为真，则以下哪项不能确定真假？【C】

Ⅰ.法国足球队的替补队员尼尔参与了罢训事件。

Ⅱ.法国足球队有的替补队员没有参与罢训事件。

Ⅲ.法国足球队替补队员都没有参与罢训事件。

Ⅳ.法国足球队没有任何替补队员不参与罢训事件。

A.仅Ⅰ。

B.仅Ⅰ、Ⅱ和Ⅲ。

C.仅Ⅰ、Ⅱ和Ⅳ。

D.仅Ⅲ。

E.Ⅰ、Ⅱ、Ⅲ和Ⅳ。

【解析】

1.本题涉及知识点：

本题考查全称、特称与单称之间的真假关系。

（1）全称命题为真，特称和单称命题也都为真。

（2）单称命题为真，只能推出特称命题为真。

2.技巧方法：

此类题的解题方法是通过根据题干给出的条件，结合对当方阵，找到对应的位置，再结合选项进行判断。

3.具体过程：

题干信息：“有的”替补队员参与了罢训事件。Ⅰ选项：关键词为“尼尔”，由“有的”无法推知个体情况，不能确定真假。Ⅱ选项：关键词为“有的不”，由对当关系可知，“有的”和“有的不”至少一真，故“有的”为真时，无法判断“有的不”的真假。Ⅲ选项：关键词为“都不”，由对当关系可知，“有的”和“都不”是矛盾关系，故Ⅲ选项一定为假。复选项Ⅳ：关键词为“没有任何不”＝没有一个不＝都，由对当关系可知，“有的”为真时无法推知“都”的真假。

故选 C。

14.中山市高教园区发现有些外国专家没有办理境外人士居留证。
如果上述断定为真，则以下哪项不能确定真假？【B】
Ⅰ.中山市高教园区的所有外国专家都未办理境外人士居留证。
Ⅱ.中山市高教园区的所有外国专家都办理了境外人士居留证。
Ⅲ.中山市高教园区有些外国专家办理了境外人士居留证。
Ⅳ.中山市高教园区的外国专家刘易斯教授办理了境外人士居留证。
A.仅Ⅰ、Ⅱ、Ⅲ。
B.仅Ⅰ、Ⅲ和Ⅳ。
C.仅Ⅰ和Ⅲ。
D.仅Ⅰ和Ⅳ。
E.仅Ⅳ。
【解析】
1.本题涉及知识点：
本题考查全称、特称与单称之间的真假关系。
（1）全称命题为真，特称和单称命题也都为真。
（2）单称命题为真，只能推出特称命题为真。
2.技巧方法：
此类题的解题方法是通过根据题干给出的条件，结合对当方阵，找到对应的位置，再结合选项进行判断。
3.具体过程：
题干信息：有些外国专家没有办理境外人士居留证，关键词为“有的不”。Ⅰ选项：关键词为“都不”，由对当关系可知，“有的不”为真，无法推知“都不”的真假。Ⅱ选项：关键词为“都”，由对当关系可知，“有的不”和“都”是矛盾关系，故Ⅱ一定为假。Ⅲ选项：关键词为“有的”，由对当关系可知，“有的”和“有的不”至少一真，故“有的不”为真时，无法判断“有的”的真假。Ⅳ选项：关键词为“刘易斯”，由“有的不”无法推知个体情况，不能确定真假。
故选 B。

15.没有人想死。即使是想上天堂的人，也不想搭乘死亡的列车到达那里。然而，死亡是我们共同的宿命，没有人能逃过这个宿命，而且也理应如此。因为死亡很可能是生命独一无二的最棒发明，它是生命改变的原动力，它清除老一代的生命，为新一代开道。
如果以上陈述为真，下面哪一项陈述必定为假？【C】
A.所有人都不能逃过死亡的宿命。

B.人并不都能逃过死亡的宿命。

C.并非人都不能逃过死亡的宿命。

D.张博不能逃过死亡的宿命。

E.人不都能逃过死亡的宿命。

【解析】

1.本题涉及知识点：

本题考查全称、特称与单称之间的真假关系。

（1）全称命题为真，特称和单称命题也都为真。

（2）单称命题为真，只能推出特称命题为真。

2.技巧方法：

此类题的解题方法是通过根据题干给出的条件，结合对当方阵，找到对应的位置，再结合选项进行判断。

3.具体过程：

题干断定，所有人都不能逃过死亡的宿命。C 项则说“有些人能逃过死亡的宿命”，与题干断定矛盾，一定是假的。其他选项都是真的。

故选 C。

假言、联言、选言判断及复合推理

1.小妮能学好数学，并且能学好逻辑。

若以上陈述为真，以下哪项判断为假？【D】

A.小妮能学好数学。

B.小妮能学好逻辑。

C.小妮能学好数学，也能学好英语。

D.小妮不能学好逻辑，但能学好写作。

E.小妮能学好逻辑，也能学好写作。

【解析】

1.本题涉及知识点：

本题考查联言判断的定义及标志词。

（1）联言判断的标准式及非标准联结词

标准式	公式表达（干判断）	支判断		非标准联结词
P 且 Q	P∧Q	P	Q	并且；和；但；而；兼得；既……又……；不但……而且……；虽然……但是……

（2）联言判断等价关系

①若 P∧Q 为真，等价于 P 和 Q 均为真。

②若 P∧Q 为假，等价于 P 和 Q 至少有一个是假的。

2.技巧方法：

此类题的解题方法是通过根据题干给出的陈述，找到标志词，将题干中的条件符号化，再根据对应的真值情况结合选项进行判断。

3.具体过程：

题干可梳理为学好数学∧学好逻辑，要找出必然为假的命题，容易分析出 A，B 必定为真，C，E 的真假性不能确定，只有 D 项与题干矛盾，必然为假。

故选 D。

2.为进一步加强对不遵守交通信号等违法行为的执法管理，规范执法程序，确保执法公正，某市交警支队要求：凡属交通信号指示不一致、有证据证明救助危难等情形，一律不得录入道路交通违法信息系统；对已录入信息系统的交通违法记录，必须完善异议受理、核查、处理等工作规范，最大限度减少执法争议。

根据上述交警支队的要求，可以得出以下哪项？【D】

A.有些因救助危难而违法的情形，如果仅有当事人说辞但缺乏当时现场的录像证明，就应录入

道路交通违法信息系统。

B.对已录入系统的交通违法记录，只有聆听群众异议，加强群众监督，才能最大限度减少执法争议。

C.如果汽车使用了行车记录仪，就可以提供现场实时证据，大大减少被录入道路交通违法信息系统的可能性。

D.因信号灯相位设置和配时不合理等造成交通信号不一致而引发的交通违法情形，可以不录入道路交通违法信息系统。

E.只要对已录入系统的交通违法记录进行异议受理、核查和处理，就能最大限度减少执法争议。

【解析】

1.本题涉及知识点：

本题考查联言判断的推理。

（1）联言判断的标准式及非标准联结词

标准式	公式表达（干判断）	支判断		非标准联结词
P 且 Q	P∧Q	P	Q	并且；和；但；而；兼得；既……又……；不但……而且……；虽然……但是……

（2）支判断推干判断：

①若 P 和 Q 均为真，则 P∧Q 为真。

②若 P 和 Q 有一假，或二者均假，则 P∧Q 为假。

2.技巧方法：

此类题的解题方法是通过根据题干给出的陈述，找到标志词，将题干中的条件符号化，再根据对应的真值情况结合选项进行判断。

3.具体过程：

题干信息：

①交通信号指示不一致∨有证据证明救助危难等情形→不得录入道路交通违法信息系统。

②已录入信息系统的交通违法记录→完善异议受理、核查、处理等工作规范∧最大限度地减少执法争议。

A 选项，仅有当事人说辞，缺乏录像证明，说明不能证明有救助危难的情形，否定①中的支判断，不必然得到后续结论。

B 选项，题干中未涉及“倾听群众异议等信息”，无法推出。

C 选项，“行车记录仪”不是题干“不录入道路违法信息系统”的充分条件，无法推出。

D 选项，肯定了①中的“交通信号指示不一致”，根据选言性质“支有一真则干为真”能推出“不录入道路交通违法信息系统”，正确。

E 选项，涉及②中的结论，但两者是并列关系，而非条件关系，无法推出。

故选 D。

3.曙光食品厂对火腿、香肠、烤肉三种食品进行检验，检验它们所含的食品添加剂和它们所使用的包装材料，只有都通过检验的才能出厂。检验结果：食品添加剂合格的有两种食品，包装材料合格的也有两种食品。

根据上述检验结果，以下哪项一定为真？【B】

A.至少有一种食品可以出厂。

B.有可能火腿、香肠、烤肉都不能出厂。

C.这些食品要出厂还需通过其他检验。

D.火腿一定是合格的，所以可以出厂。

E.有两种食品可以出厂。

【解析】

1.本题涉及知识点：

本题考查联言判断的推理。

（1）联言判断的标准式及非标准联结词

标准式	公式表达（干判断）	支判断		非标准联结词
P 且 Q	P∧Q	P	Q	并且；和；但；而；兼得；既……又……；不但……而且……；虽然……但是……

（2）支判断推干判断：

①若 P 和 Q 均为真，则 P∧Q 为真。

②若 P 和 Q 有一假，或二者均假，则 P∧Q 为假。

2.技巧方法：

此类题的解题方法是通过根据题干给出的陈述，找到标志词，将题干中的条件符号化，再根据对应的真值情况结合选项进行判断。

3.具体过程：

题干信息：①出厂→添加剂合格∧包装合格；②两种添加剂合格，两种包装合格。由逻辑关系①可知，即使添加剂和包装都合格，也无法推出“出厂”，所以有可能火腿、香肠和烤肉都不能出厂。

故选 B。

4.某工厂实验室对三种产品 A、B、C 进行撞击和拉伸测试，能通过这两种测试的产品就是合格品。结果有两种产品通过了撞击测试，有两种产品通过了拉伸测试。

根据上述测试，以下哪项一定为真？【C】

A.有两种产品是合格品。

B.还应该通过其他测试。

C.至少有一种产品是合格品。

D.有可能三种产品都不是合格品。

E.产品 A 是合格品。

【解析】

1.本题涉及知识点：

本题考查联言判断的推理。

（1）联言判断的标准式及非标准联结词

标准式	公式表达（干判断）	支判断		非标准联结词
P 且 Q	P∧Q	P	Q	并且；和；但；而；兼得；既……又……；不但……而且……；虽然……但是……

（2）支判断推干判断：

①若 P 和 Q 均为真，则 P∧Q 为真。

②若 P 和 Q 有一假，或二者均假，则 P∧Q 为假。

2.技巧方法：

此类题的解题方法是通过根据题干给出的陈述，找到标志词，将题干中的条件符号化，再根据对应的真值情况结合选项进行判断。

3.具体过程：

题干信息：①通过撞击测试∧通过拉伸测试→合格品；②两种通过撞击测试，两种通过拉伸测试。由②可知，会有一种产品或两种产品通过这两种测试；结合品①可得，至少有一种产品是合格品。

故选 C。

5.尼莫公司规定：只要某员工每周工作时间超过 50 小时，就能够获得每周的牛排奖；只有某员工每周工作时间超过 40 小时，才能获得每周的鸡腿奖。该公司一共有 17 名员工，在九月的最后一周，一共有 7 名员工本周工作时间超过 50 小时，而其余 10 名员工的工作时间都不足 40 小时。

根据以上数据，关于九月最后一周的尼莫公司员工，以下哪项一定为真？【B】

Ⅰ.获得牛排奖的员工一定获得了鸡腿奖。

Ⅱ.获得鸡腿奖的员工一定获得了牛排奖。

Ⅲ.获得牛排奖的员工不到员工总数的一半。

A.仅Ⅰ。

B.仅Ⅱ。

C.仅Ⅲ。

D.仅Ⅱ和Ⅲ。

E.Ⅰ、Ⅱ和Ⅲ。

【解析】

1. 本题涉及知识点：

本题考查联言判断的推理。

（1）联言判断的标准式及非标准联结词

标准式	公式表达（干判断）	支判断		非标准联结词
P 且 Q	P∧Q	P	Q	并且；和；但；而；兼得；既……又……；不但……而且……；虽然……但是……

（2）支判断推干判断：

①若 P 和 Q 均为真，则 P∧Q 为真。

②若 P 和 Q 有一假，或二者均假，则 P∧Q 为假。

2. 技巧方法：

此类题的解题方法是通过根据题干给出的陈述，找到标志词，将题干中的条件符号化，再根据对应的真值情况结合选项进行判断。

3. 具体过程：

题干信息：①＞50 小时→牛排奖；②鸡腿奖→＞40 小时；③7 名员工→＞50 小时，10 名员工→＜40 小时。选项Ⅰ：由①和逻辑推理规则可知，从“牛排奖”无法推出其他任何信息，排除。选项Ⅱ：由②可得，鸡腿奖→＞40 小时；再由③可知，该公司员工的工作时间要么＞50 小时，要么＜40 小时；由“＞40 小时”可知，一定＞50 小时；再结合①可知：鸡腿奖→＞40 小时→＞50 小时→牛排奖，所以复选项Ⅱ一定为真。选项Ⅲ：由③①可知，7 名员工→＞50 小时→牛排奖，所以至少有 7 名员工一定会得到牛排奖，剩下的 10 名员工是否能得到牛排奖从题干信息无法推知，所以无法推知获得牛排奖的员工是否不到员工总数的一半，排除。

故选 B。

6. 一项产品要成功占领市场，必须既有合格的质量，又有必要的包装；一项产品，不具备足够的技术投入，合格的质量和必要的包装难以两全；而只有足够的资金投入，才能保证足够的技术投入。苹果公司的手机质量合格并且包装上乘。

根据以上已知条件，以下哪项结论可能为真？【E】

Ⅰ. 苹果公司的手机占领了市场。

Ⅱ. 苹果公司的手机具备足够的技术投入。

Ⅲ. 苹果公司的手机具有足够的资金投入。

A. 只有Ⅰ。

B. 只有Ⅱ。

C. 只有Ⅲ。

D. 只有Ⅱ和Ⅲ。

E. Ⅰ、Ⅱ和Ⅲ。

【解析】

1. 本题涉及知识点：

本题考查联言判断的推理。

（1）联言判断的标准式及非标准联结词

标准式	公式表达（干判断）	支判断		非标准联结词
P 且 Q	P∧Q	P	Q	并且；和；但；而；兼得；既……又……；不但……而且……；虽然……但是……

（2）支判断推干判断：

①若 P 和 Q 均为真，则 P∧Q 为真。

②若 P 和 Q 有一假，或二者均假，则 P∧Q 为假。

2. 技巧方法：

此类题的解题方法是通过根据题干给出的陈述，找到标志词，将题干中的条件符号化，再根据对应的真值情况结合选项进行判断。

3. 具体过程：

题干信息：①占领市场→质量∧包装；②¬技术→¬（质量∧包装）；③技术→资金；④苹果公司→质量∧包装。结合条件④②③可得：⑤苹果公司→质量∧包装→技术→资金。复选项Ⅰ：由题干信息无法推知苹果公司是否占领市场，所以可能为真，正确。复选项Ⅱ：由条件⑤可知，“苹果公司具备技术”一定为真，属于“可能为真”的范围，正确。复选项Ⅲ：由条件⑤可知，“苹果公司具备资金”一定为真，属于“可能为真”的范围，正确。故选 E。

7. 除非年龄在 50 岁以下，并且能持续游泳在三千米以上，否则不能参加下个月举行的横渡长江活动。同时，高血压和心脏病患者不能参加。老黄能持续游泳三千米以上，但没被批准参加这项活动。

以上断定能推出以下哪项结论？【E】

Ⅰ. 老黄的年龄至少 50 岁。

Ⅱ. 老黄患有高血压。

Ⅲ. 老黄患有心脏病。

A. 只有Ⅰ。

B. 只有Ⅱ。

C. 只有Ⅲ。

D. Ⅰ、Ⅱ、Ⅲ至少有一。

E. Ⅰ、Ⅱ、Ⅲ都不能从题干推出。

【解析】

1. 本题涉及知识点：

本题考查联言判断的推理。

（1）联言判断的标准式及非标准联结词

标准式	公式表达（干判断）	支判断		非标准联结词
P 且 Q	P∧Q	P	Q	并且；和；但；而；兼得；既……又……；不但……而且……；虽然……但是……

（2）支判断推干判断：

①若 P 和 Q 均为真，则 P∧Q 为真。

②若 P 和 Q 有一假，或二者均假，则 P∧Q 为假。

2. 技巧方法：

此类题的解题方法是通过根据题干给出的陈述，找到标志词，将题干中的条件符号化，再根据对应的真值情况结合选项进行判断。

3. 具体过程：

本题考查了联言命题。题干给出的第一个判断的标准表达是一个必要条件假言命题，其必要条件又是一个由“并且”引导的联言命题。即“参加下个月举行的横渡长江活动→年龄在 50 岁以下，并且能持续游泳三千米以上”。判断二为充分条件假言命题，即“有高血压和心脏病→不能参加活动”。题干给出的“老黄能持续游泳三千米”只是肯定了必要条件命题中的联言肢之一，不能进行有效推理。题干给出的另一个小前提“老黄没被批准参加这项活动”，也只是否定了必要条件假言命题中的充分条件，不能进行有效推理。所以，Ⅰ、Ⅱ和Ⅲ均不能从题干中推出来。

故选 E。

8. 小王是足球明星并且小李不是网球明星。

如果上述判断为假，且小李确实不是网球明星，则以下哪项为真？【C】

A. 小王是足球明星。

B. 小王和小赵都是足球明星。

C. 小王不是足球明星。

D. 不能确定小王是不是足球明星。

E. 小王是网球明星。

【解析】

1. 本题涉及知识点：

本题考查联言判断的推理。

（1）联言判断的标准式及非标准联结词

标准式	公式表达（干判断）	支判断		非标准联结词
P 且 Q	P∧Q	P	Q	并且；和；但；而；兼得；既……又……；不但……而且……；虽然……但是……

（2）支判断推干判断：

①若 P 和 Q 均为真，则 P∧Q 为真。

②若 P 和 Q 有一假，或二者均假，则 P∧Q 为假。

2. 技巧方法：

此类题的解题方法是通过根据题干给出的陈述，找到标志词，将题干中的条件符号化，再根据对应的真值情况结合选项进行判断。

3. 具体过程：

题干信息：王足球∧¬李网球；“上述判断为假”；¬李网球。¬（王足球∧¬李网球）＝¬王足球∨李网球＝¬李网球→¬王足球。

故选 C。

9. 张先生花 5 万元购买橱柜、卫浴和供暖设备。已知：

（1）如果买橱柜，就不买卫浴，也不买供暖设备。

（2）如果不买橱柜，就买卫浴。

（3）如果卫浴、橱柜至少有一种不买，则买供暖设备。

根据以上陈述，关于张先生的购买打算可以得出哪项？【D】

A. 买橱柜和卫浴。

B. 买橱柜和供暖设备。

C. 买橱柜但不买卫浴。

D. 买卫浴和供暖设备。

E. 买卫浴但不买供暖设备。

【解析】

1. 本题涉及知识点：

本题考查联言判断的负判断。

（1）联言判断的矛盾判断公式：

原判断	对应矛盾判断	常用公式
P∧Q	¬ P∨¬ Q	¬（P∧Q）＝¬ P∨¬ Q

（2）支判断推干判断：

①若 P 和 Q 均为真，则 P∧Q 为真。

②若 P 和 Q 有一假，或二者均假，则 P∧Q 为假。

2. 技巧方法：

此类题的解题方法是通过根据题干给出的陈述，找到标志词，将题干中的条件符号化，再根据对应的真值情况结合选项进行判断。

3.具体过程：

（1）橱→¬卫∧¬供暖；（2）¬橱→卫；（3）（¬卫∨ ¬橱）→供暖。

假设买橱柜，根据（1）可得不买卫浴且不买供暖，再结合（3）可推出买供暖，前后产生矛盾，所以原假设不成立，张先生是不买橱柜。由“不买橱柜”结合（2）（3）可推出购买卫浴和供暖设备，故选 D。

10.以下能反驳“他既会弹钢琴，也会弹吉他”的有几项？【D】

①他会弹吉他，但不会弹钢琴。

②他会弹钢琴，但不会弹吉他。

③他既不会弹钢琴，也不会弹吉他。

④他或者不会弹钢琴，或者不会弹吉他。

⑤如果他不会弹钢琴，那么他也不会弹吉他。

A.1 项。

B.2 项。

C.3 项。

D.4 项。

E.5 项。

【解析】

1.本题涉及知识点：

本题考查联言判断的负判断。

（1）联言判断的矛盾判断公式：

原判断	对应矛盾判断	常用公式
P∧Q	¬ P∨¬ Q	¬（P∧Q）＝¬ P∨¬ Q

（2）支判断推干判断：

①若 P 和 Q 均为真，则 P∧Q 为真。

②若 P 和 Q 有一假，或二者均假，则 P∧Q 为假。

2.技巧方法：

此类题的解题方法是通过根据题干给出的陈述，找到标志词，将题干中的条件符号化，再根据对应的真值情况结合选项进行判断。

3.具体过程：

题干信息：钢琴∧吉他。其矛盾关系可以对其形成反驳。矛盾关系：¬（钢琴∧吉他）＝¬钢琴∨¬吉他＝钢琴→¬吉他＝吉他→¬钢琴。①②③④都是至少有一项不会，可以反驳。⑤与其矛盾关系不一致，无法反驳。故选 D。

11.如果“鱼和熊掌不可兼得”是不可改变的事实，那么以下哪项也一定是事实？【E】

A.鱼可得但熊掌不可得。

B.熊掌可得但鱼不可得。

C.鱼和熊掌皆不可得。

D.如果鱼不可得，那么熊掌可得。

E.如果鱼可得，那么熊掌不可得。

【解析】

1.本题涉及知识点：

本题考查联言判断的负判断和选言的支、干判断。

（1）联言判断的矛盾判断公式：

原判断	对应矛盾判断	常用公式
P∧Q	¬P∨¬Q	¬（P∧Q）＝¬P∨¬Q

（2）支判断推干判断

①若P、Q有一个真，或二者均为真，则P∨Q为真。

②若P和Q均为假，则P∨Q为假。

2.技巧方法：

此类题的解题方法是通过根据题干给出的陈述，找到标志词，将题干中的条件符号化，再根据对应的真值情况结合选项进行判断。

3.具体过程：

本题主要考查可兼容选言命题。可从题干得到信息：鱼不可得或熊掌不可得。而E项也可以写成：鱼不可得或熊掌不可得。而D项则应写成：鱼可得或熊掌不可得。所以不正确。

故选E。

12.要么张三不去北京，要么李四不去北京。

如果以上判断是真，那么下面哪项必为真？【A】

A.如果张三不去北京，那么李四去北京。

B.如果张三去北京，那么李四去北京。

C.只有张三去北京，李四才去北京。

D.只有张三不去北京，李四才不去北京。

E.张三和李四都不去北京。

【解析】

1.本题涉及知识点：

本题考查不相容选言判断的推理。

（1）不相容选言判断的公式：

标准式	公式表达（干判断）	支判断	
要么 P 要么 Q	P∨Q	P	Q

（2）支判断推干判断

①若 P、Q 一真一假，则 P∨Q 为真。

②若 P 和 Q 都为真或都为假，则 P∨Q 为假。

（3）干判断推支判断

①若 P∨Q 为真，可推出存在只有 P 真、只有 Q 真两种可能性，但谁真不确定。

②若 P∨Q 为假，表明 P 和 Q 都为真，或者 P 和 Q 都为假两种可能性。

（4）支判断推支判断

①若 P∨Q 为真，已知其一为假，则另一个必然为真。即¬ P→Q；¬ Q→P。

②若 P∨Q 为真，已知其一为真，则另一个必然为假。即 P→¬ Q；Q→¬ P。

2.技巧方法：

此类题的解题方法是通过根据题干给出的陈述，找到标志词，将题干中的条件符号化，再根据对应的真值情况结合选项进行判断。

3.具体过程：

题干信息：¬张北京∨¬李北京。由“要么”的逻辑含义可知，“¬张北京”和“¬李北京”有且只有一真。A 选项：“¬张北京”为真，则“¬李北京”应为假，即“李北京”，正确。B 选项：“¬张北京”为假，则“¬李北京”应为真，排除。C 选项：“¬李北京”为假，则“¬张北京”应为真，排除。D 选项：“¬李北京”为真，则“¬张北京”应为假，排除。E 选项：与题干所表达的逻辑含义不符，排除。故选 A。

13.如果发生了交通事故，则不是骑车人违反了交通规则就是司机违反了交通规则。所以，如果骑车人没有违反交通规则，则司机违反了交通规则。

上述论证与以下哪项最相似？【A】

A.如果电影院只实行部分优惠，则甲和乙两人中必有一人要买全价电影票。因此，如果甲没有买全价电影票，则乙就要买全价电影票。

B.如果发生了交通事故，则不是行人违反了交通规则就是司机违反了交通规则。所以，如果行人违反了交通规则，则司机没有违反交通规则。

C.如果夏天天上云彩多，则可能下雨也可能下冰雹。所以，如果夏天天上云彩多，则可能下冰雹。

D.如果发生了医疗事故，则医生和护士都有责任。因此，如果医生没有责任，则护士也没有责任。

E.如果我考上了大学，就会得到助学金或奖学金。所以，如果我考上了大学，就一定会得到资助。

【解析】

1. 本题涉及知识点：

本题考查不相容选言判断的推理。

（1）不相容选言判断的公式：

标准式	公式表达（干判断）	支判断	
要么 P 要么 Q	P∀Q	P	Q

（2）支判断推干判断

①若 P、Q 一真一假，则 P∀Q 为真。

②若 P 和 Q 都为真或都为假，则 P∀Q 为假。

（3）干判断推支判断

①若 P∀Q 为真，可推出存在只有 P 真、只有 Q 真两种可能性，但谁真不确定。

②若 P∀Q 为假，表明 P 和 Q 都为真，或者 P 和 Q 都为假两种可能性。

（4）支判断推支判断

①若 P∀Q 为真，已知其一为假，则另一个必然为真。即¬ P→Q；¬ Q→P。

②若 P∀Q 为真，已知其一为真，则另一个必然为假。即 P→¬ Q；Q→¬ P。

2. 技巧方法：

此类题的解题方法是通过根据题干给出的陈述，找到标志词，将题干中的条件符号化，再根据对应的真值情况结合选项进行判断。

3. 具体过程：

题干信息：交通事故（A）→骑车人（B）∀司机（C）。所以，¬骑车人（¬B）→司机（C）。A 选项：部分优惠（A）→甲（B）∀乙（C）。所以，¬甲（¬B）→乙（C）。该项与题干论证相似，正确。B 选项：根据题干，“所以”后面应是“¬B，则 C”，即“如果行人没有违反交通规则，则司机违反交通规则”，排除。C 选项：该项有“可能……也可能……”这一连接词，与题干逻辑关系不一致，排除。D 选项：该项有“都”这一连接词，与题干逻辑关系不一致，排除。E 选项：根据题干，“所以”后面应是“¬B，则 C”，即“如果我没有得到助学金，则一定会得到奖学金”，排除。

故选 A。

14. 对所有的产品都进行了检查；没有发现假冒伪劣产品。

如果上述断定为假，那么以下哪项一定为真？【E】

Ⅰ. 有的产品尚未经检查，但发现了假冒伪劣产品。

Ⅱ. 或者有的产品尚未经检查，或者发现了假冒伪劣产品。

Ⅲ. 如果对所有的产品都进行了检查，则可发现假冒伪劣产品。

A. 仅仅Ⅰ。

B. 仅仅Ⅱ。

C. 仅仅Ⅲ。

D. 仅仅Ⅰ和Ⅱ。

E. 仅仅Ⅱ和Ⅲ。

【解析】

1. 本题涉及知识点：

本题考查选言判断的负判断。

（1）选言判断的负判断公式：

原判断	对应矛盾判断	常考公式
P∨Q	¬P∧¬Q	¬（P∨Q）＝¬P∧¬Q
P∀Q	（P∧Q）∨（¬P∧¬Q）	¬（P∀Q）＝（P∧Q）∨（¬P∧¬Q）

2. 技巧方法：

此类题的解题方法是通过根据题干给出的陈述，找到标志词，将题干中的条件符号化，再根据对应的真值情况结合选项进行判断。

3. 具体过程：

本题主要考查联言命题的矛盾。题干为假，即题干中的两句话至少得有一句是假的。“所有的产品都进行了检查”为假，意味着“有的产品尚未经检查”。“没有发现假冒伪劣产品”为假，意味着“发现了假冒伪劣产品”。选项Ⅰ说两句话都是假的，显然不一定，因为题干中只要有一句话是假的就为假，不一定两句话都是假的。选项Ⅱ说两句话至少有一句是假的，显然一定真。选项Ⅰ说两句话中如果前面一句为真，则后面一句就是假的，显然一定真。所以，只有选项Ⅱ和Ⅲ一定是真的。

故选 E。

15. 对本届奥运会所有奖牌获得者都进行了尿样化验，没有发现兴奋剂使用者。

如果上述陈述为假，则以下哪项一定为真？【D】

Ⅰ. 或者有的奖牌获得者没有化验尿样，或者在奖牌获得者中发现了兴奋剂的使用者。

Ⅱ. 虽然有的奖牌获得者没有化验尿样，但还是发现了兴奋剂使用者。

Ⅲ. 如果对所有奖牌获得者都进行了尿样化验，则一定发现了兴奋剂使用者。

A. 只有Ⅰ。

B. 只有Ⅱ。

C. 只有Ⅲ。

D. 只有Ⅰ和Ⅲ。

E. 只有Ⅰ和Ⅱ。

【解析】

1. 本题涉及知识点：

本题考查选言判断的负判断。

（1）选言判断的负判断公式：

原判断	对应矛盾判断	常考公式
P∨Q	¬P∧¬Q	¬（P∨Q）=¬P∧¬Q
P∀Q	（P∧Q）∨（¬P∧¬Q）	¬（P∀Q）=（P∧Q）∨（¬P∧¬Q）

2. 技巧方法：

此类题的解题方法是通过根据题干给出的陈述，找到标志词，将题干中的条件符号化，再根据对应的真值情况结合选项进行判断。

3. 具体过程：

本题主要考查联言命题的矛盾和选言命题的推理规则。题干是一个联言命题，由该命题为假可得一个选言命题。即由“对本届奥运会所有奖牌获得者都进行了尿检，没有发现兴奋剂使用者”为假，可得：Ⅰ“有的奖牌获得者没有进行尿检或在奖牌获得者中发现了兴奋剂使用者”。再以这个结论出发，运用选言命题的推理规则，可得Ⅲ：“如果对所有奖牌获得者都进行了尿检，则一定发现了兴奋剂使用者”。所以，Ⅰ和Ⅲ都一定为真，但Ⅰ不一定为真，该项只是题干为假时的一种可能性。

故选 D。

16. 袁老师说：“并非小秦考上了中国人民大学并且小柯没有考上对外经济贸易大学。”

如果袁老师说的为真，则以下哪项可能为真？【D】

Ⅰ. 小秦考上了中国人民大学，小柯考上了对外经济贸易大学。

Ⅱ. 小秦考上了北京国家会计学院，小柯考上了首都经济贸易大学。

Ⅲ. 小秦考上了中央财经大学，小柯考上了对外经济贸易大学。

Ⅳ. 小秦考上了中国人民大学，小柯考上了厦门大学。

A. 仅Ⅰ、Ⅱ。

B. 仅Ⅱ、Ⅲ。

C. 仅Ⅲ、Ⅳ。

D. 仅Ⅰ、Ⅱ和Ⅲ。

E. 仅Ⅰ、Ⅲ和Ⅳ。

【解析】

1. 本题涉及知识点：

原判断	对应矛盾判断	常考公式
P∨Q	¬P∧¬Q	¬（P∨Q）=¬P∧¬Q
P∀Q	（P∧Q）∨（¬P∧¬Q）	¬（P∀Q）=（P∧Q）∨（¬P∧¬Q）

本题考查选言判断的负判断。

（1）选言判断的负判断公式：

2. 技巧方法：

此类题的解题方法是通过根据题干给出的陈述，找到标志词，将题干中的条件符号化，再根据

对应的真值情况结合选项进行判断。

3.具体过程：

题干信息：¬（小秦人大∧¬小柯对外经贸）＝¬小秦人大∨小柯对外经贸。此题要选“可能为真”的选项，只要满足“¬小秦人大”和“小柯对外经贸”其中之一即可。复选项Ⅰ：满足了“小柯对外经贸”，可能为真。复选项Ⅱ：满足了“¬小秦人大”，可能为真。复选项Ⅲ：满足了“¬小秦人大”和“小柯对外经贸”，可能为真。复选项Ⅳ：“¬小秦人大”和“小柯对外经贸”均未满足，不可能为真，排除。

故选 D。

17.对当代大学生来说，德育比智育更重要。学校的课程设计如果不注重培养学生的完美人格，那么，即使用高薪聘请著名的专家教授，也不能使学生在面临道德伦理、价值观念挑战的 21 世纪脱颖而出。

以下各项关于当代大学生的断定都符合上述断定的原意，除了：【E】

A.学校的课程设计只有注重培养学生的完美人格，才能使当代学生取得成就。

B.如果当代学生在 21 世纪脱颖而出，那一定是对他们进行了注重培养完美人格的教育。

C.不能设想学生在面临道德伦理、价值观念挑战的 21 世纪脱颖而出，而他的人格却不完善。

D.除非注重完美人格的培养，否则 21 世纪的学生难以脱颖而出。

E.即使不用高薪聘请著名的专家教授，学校的课程设计只要注重培养学生的完美人格，当代学生就能在 21 世纪脱颖而出。

【解析】

1.本题涉及知识点：

本题考查假言命题充分条件的推理。

（1）充分条件的标志词：

标准式	公式表达（干判断）	支判断		标志词
如果 P 那么 Q	P→Q	P	Q	如果 P，那么 Q；只要 P，就 Q 所有 P 都是 Q；若 P，则 Q 一 P，就 Q；P 是 Q；P 一定 Q

2.技巧方法：

此类题的解题方法是通过根据题干给出的陈述，找到标志词，将题干中的条件符号化，再根据对应的真值情况结合选项进行判断。

3.具体过程：

题干是由“如果……那么……”引导的充分条件假言命题，可形式化为“不注重培养学生的完美人格→学生不能脱颖而出”，继而可推出“学生脱颖而出→注重培养学生的完美人格”，其他的都无法推出。A、B、C、D 四项都表达了与题干相同的意思，E 项错把必要条件“注重培养学生的完美人格”误用为充分条件，与题干意思不符。

故选 E。

18. 只要有足够的勇气和智慧，就没有办不成的事。

如果上述断定为真，则以下哪项一定为真？【B】

A. 如果有事办不成，说明既缺乏足够的勇气，又缺乏足够的智慧。

B. 如果有事办不成，说明缺乏足够的勇气，或者缺乏足够的智慧。

C. 如果没有办不成的事，说明至少有足够的勇气。

D. 如果缺乏足够的勇气和智慧，那就办不成任何事。

E. 如果缺乏足够的勇气和智慧，就总有事办不成。

【解析】

1. 本题涉及知识点：

本题考查假言命题充分条件的推理。

（1）充分条件的标志词：

标准式	公式表达（干判断）	支判断		标志词
如果 P 那么 Q	P→Q	P	Q	如果 P，那么 Q；只要 P，就 Q 所有 P 都是 Q；若 P，则 Q 一 P，就 Q；P 是 Q；P 一定 Q

2. 技巧方法：

此类题的解题方法是通过根据题干给出的陈述，找到标志词，将题干中的条件符号化，再根据对应的真值情况结合选项进行判断。

3. 具体过程：

题干是一个以联言命题为前件的充分条件假言命题，可用反三段论法求解，否定后件可推出否定前件，即前件中联言命题的联言肢至少有一个不成立，联言命题的否定是一个“或者”引导的选言命题。

故选 B。

19. 如果所有的鸟都会飞，并且鸵鸟是鸟，那么鸵鸟会飞。

从这个前提出发，需加上下面哪一组前提，才能逻辑地推出“有些鸟不会飞”？【C】

A. 鸵鸟不是鸟，且鸵鸟会飞。

B. 有的鸟会飞，且鸵鸟是鸟。

C. 鸵鸟不会飞，但鸵鸟是鸟。

D. 鸵鸟不会飞，且所有的鸟都会飞。

E. 鸵鸟不会飞，且鸵鸟不是鸟。

【解析】

1. 本题涉及知识点：

本题考查假言命题充分条件的推理。

（1）充分条件的标志词：

标准式	公式表达（干判断）	支判断		标志词
如果 P 那么 Q	P→Q	P	Q	如果 P，那么 Q；只要 P，就 Q 所有 P 都是 Q；若 P，则 Q 一 P，就 Q；P 是 Q；P 一定 Q

2. 技巧方法：

此类题的解题方法是通过根据题干给出的陈述，找到标志词，将题干中的条件符号化，再根据对应的真值情况结合选项进行判断。

3. 具体过程：

“有些鸟不会飞”，即题干中前件的一个联言肢“所有的鸟都会飞”的矛盾命题，可用反三段论法求解。根据充分条件假言命题的推理规则，否定后件可推出否定前件。所以，首先需要增加“鸵鸟不会飞”这样一个前提。增加该前提后，就可以进一步得到：“并非‘所有的鸟都会飞，并且鸵鸟是鸟’”，其等值于：“有的鸟不会飞或者鸵鸟不是鸟”。此时只需要增加“鸵鸟是鸟”这样一个小前提，即可得出结论“有些鸟不会飞”。

故选 C。

20. 如果未来的父母在孩子出生前确实想要这个孩子，那么，孩子出生后肯定不会受虐待。以下哪一项如果成立，那么以上的结论才会为真？【E】

A. 未来的父母一旦有了自己的孩子，会改变原本只是想传宗接代的观念。

B. 爱孩子的人不会虐待下一代。

C. 不想要孩子的人通常也会抚养孩子。

D. 不爱自己孩子的人通常会虐待孩子。

E. 虐待孩子的人都是不想要孩子的。

【解析】

1. 本题涉及知识点：

本题考查假言命题充分条件的推理。

（1）充分条件的标志词：

标准式	公式表达（干判断）	支判断		标志词
如果 P 那么 Q	P→Q	P	Q	如果 P，那么 Q；只要 P，就 Q 所有 P 都是 Q；若 P，则 Q 一 P，就 Q；P 是 Q；P 一定 Q

2. 技巧方法：

此类题的解题方法是通过根据题干给出的陈述，找到标志词，将题干中的条件符号化，再根据对应的真值情况结合选项进行判断。

3. 具体过程：

本题考查假言命题推理规则，如果是虐待孩子的人那么就是不想要孩子的人。以此为大前提，通过否定后件到否定前件的充分条件的假言推理，就可以得出题干中的结论。故选 E。

21. 随着心脏病成为人类的第一杀手，人的血液中胆固醇的含量越来越引起人们的重视。一个人血液中的胆固醇含量越高，患致命的心脏病的风险也就越大。至少有三个因素会影响人的血液中胆固醇的含量，它们是抽烟、饮酒和运动。

如果上述断定为真，那么以下哪项一定为真？【A】

Ⅰ. 某些生活方式的改变，会影响一个人患心脏病的风险。

Ⅱ. 如果一个人血液中的胆固醇含量不高，那么他患致命的心脏病的风险也不高。

Ⅲ. 血液中的胆固醇高含量是造成当今人类死亡的主要原因。

A. 仅仅Ⅰ。

B. 仅仅Ⅱ。

C. 仅仅Ⅲ。

D. 仅仅Ⅰ和Ⅱ。

E. Ⅰ、Ⅱ和Ⅲ。

【解析】

1. 本题涉及知识点：

本题考查假言命题充分条件的推理。

（1）充分条件的标志词：

标准式	公式表达（干判断）	支判断		标志词
如果 P 那么 Q	P→Q	P	Q	如果 P，那么 Q；只要 P，就 Q 所有 P 都是 Q；若 P，则 Q 一 P，就 Q；P 是 Q；P 一定 Q

2. 技巧方法：

此类题的解题方法是通过根据题干给出的陈述，找到标志词，将题干中的条件符号化，再根据对应的真值情况结合选项进行判断。

3. 具体过程：

题干中得出结论“一个人血液中的胆固醇含量越高，患致命的心脏病的风险也就越大。”Ⅰ一定真，把握了题干的整体意思。Ⅱ不一定真，题干说的是“血液中胆固醇含量增高”是“患心脏病”的充分条件，并没有说是必要条件。Ⅲ不一定真，题干说的是血液中的高胆固醇含量是患心脏病死亡的主要原因，并没有说是人类死亡的主要原因。故选 A。

22. 一个产品要畅销，产品的质量和经销商的诚信缺一不可。

以下各项都符合题干的断定，除了：【A】

A. 一个产品滞销，说明它或者质量不好，或者经销商缺乏诚信。

B. 一个产品，只有质量高并且由诚信者经销，才能畅销。

C. 一个产品畅销，说明它质量高并有诚信的经销商。

D. 一个产品，除非有高的质量和诚信的经销商，否则不能畅销。

E. 一个质量好并且由诚信者经销的产品不一定畅销。

【解析】

1. 本题涉及知识点：

本题考查假言命题必要条件的推理。

（1）必要条件的标志词：

标准式	公式表达（干判断）	支判断		标志词
只有 P 才 Q	P←Q（Q→P）	P	Q	只有 P，才 Q；没有 P，没有 Q 不 P 不 Q；必须 P，才 Q 除非 P，才 Q；P 是 Q 的前提 P 是 Q 的基础；P 是 Q 的先决条件

2. 技巧方法：

此类题的解题方法是通过根据题干给出的陈述，找到标志词，将题干中的条件符号化，再根据对应的真值情况结合选项进行判断。

3. 具体过程：

题干隐含的含义是产品的好质量和经销商的诚信是一个产品畅销的必要条件，考查必要条件假言命题的知识点，可形式化为“产品畅销→产品质量好并且经销商很诚信”。A 项犯了否定充分条件妄图推结论的错误。B 项与 D 项分别为“只有……才……”“除非……否则不……”引导的必要条件假言命题，与题干同义。C 项为肯定充分条件→肯定必要条件，正确。E 项点出了前定必要条件并不一定能推出肯定充分条件，正确。故选 A。

23. 在中国，只有富士山连锁店经营日式快餐。

如果上述断定为真，以下哪项不可能为真？【B】

Ⅰ. 苏州的富士山连锁店不经营日式快餐。

Ⅱ. 杭州的樱花连锁店经营日式快餐。

Ⅲ. 温州的富士山连锁店经营韩式快餐。

A. 仅Ⅰ。

B. 仅Ⅱ。

C. 仅Ⅰ和Ⅱ。

D. 仅Ⅱ和Ⅲ。

E. Ⅰ、Ⅱ和Ⅲ。

【解析】

1. 本题涉及知识点：

本题考查假言命题必要条件的推理。

（1）必要条件的标志词：

标准式	公式表达（干判断）	支判断		标志词
只有 P 才 Q	P←Q（Q→P）	P	Q	只有 P，才 Q；没有 P，没有 Q 不 P 不 Q；必须 P，才 Q 除非 P，才 Q；P 是 Q 的前提 P 是 Q 的基础；P 是 Q 的先决条件

2. 技巧方法：

此类题的解题方法是通过根据题干给出的陈述，找到标志词，将题干中的条件符号化，再根据对应的真值情况结合选项进行判断。

3. 具体过程：

题干这一必要条件假言命题可形式化为“经营日式快餐→是富士山连锁店”，选项Ⅰ断定无前件但有后件，这不必然推出但是有可能为真。Ⅱ项断定有前件但没有后件，这是不可能为真的。选项Ⅲ断定无前件但有后件，这也是有可能的。故选 B。

24. 使中国足球队真正能跻身世界强队之列，至少必须解决两个关键问题。一是提高队员基本体能，二是讲究科学训练。不切实解决这两点，即使临战时拼搏精神发挥得再好，也不可能取得突破性的进展。

下列诸项都表达了上述议论的原意，除了：【E】

A. 只有提高队员的基本体能和讲究科学训练，才能取得突破性进展。

B. 除非提高队员的基本体能和讲究科学训练，否则不能取得突破性进展。

C. 如果取得了突破性进展，说明一定提高了队员的基本体能并且讲究了科学训练。

D. 如果不能提高队员的基本体能，即使讲究了科学训练，也不可能取得突破性进展。

E. 只要提高了队员的基本体能和讲究了科学训练，再加上临战时拼搏精神发挥得好，就一定能取得突破性进展。

【解析】

1. 本题涉及知识点：

本题考查假言命题必要条件的推理。

（1）必要条件的标志词：

标准式	公式表达（干判断）	支判断		标志词
只有 P 才 Q	P←Q（Q→P）	P	Q	只有 P，才 Q；没有 P，没有 Q 不 P 不 Q；必须 P，才 Q 除非 P，才 Q；P 是 Q 的前提 P 是 Q 的基础；P 是 Q 的先决条件

2. 技巧方法：

此类题的解题方法是通过根据题干给出的陈述，找到标志词，将题干中的条件符号化，再根据对应的真值情况结合选项进行判断。

3. 具体过程：

本题考查的是必要条件假言命题知识点。不切实解决提高队员基本体能和讲究科学训练这两点，就不能取得突破性的进展。可形式化为“取得突破性进展→解决了这两个关键问题”，A、B、C、D 四项都是同义选项，只有 E 项出现了充分条件与必要条件的混用。故选 E。

25. 小林因未戴游泳帽被拒绝进入深水池。小林出示深水合格证说：根据规定我可以进入深水池。游泳池的规定是：未戴泳帽者不得进入游泳池；只有持有深水合格证，才能进入深水池。小林最可能把游泳池的规定理解为：【C】

A. 除非持有深水合格证，否则不能进入深水池。

B. 只有持有深水合格证的人，才不需要戴泳帽。

C. 如果持有深水合格证，就能进入深水池。

D. 准许进入游泳池的人，不一定准许进入深水池。

E. 有了深水证，就不需要戴泳帽。

【解析】

1. 本题涉及知识点：

本题考查假言命题必要条件的推理。

（1）必要条件的标志词：

标准式	公式表达（干判断）	支判断		标志词
只有 P 才 Q	P←Q（Q→P）	P	Q	只有 P，才 Q；没有 P，没有 Q 不 P 不 Q；必须 P，才 Q 除非 P，才 Q；P 是 Q 的前提 P 是 Q 的基础；P 是 Q 的先决条件

2. 技巧方法：

此类题的解题方法是通过根据题干给出的陈述，找到标志词，将题干中的条件符号化，再根据对应的真值情况结合选项进行判断。

3. 具体过程：

本题考查的是必要条件假言命题知识点。游泳池的规定是：只有持有深水合格证，才能进入深水池。小林理解成了：如果持有深水合格证，就能进入深水池。E 项，因为小林不只是说要进入游泳池，而是要进入深水池。故选 C。

26. 帕累托最优，指这样一种社会状态：对于任何人来说，如果不使其他某个（或某些）人境况变坏，他的情况就不可能变好。如果一种变革能使至少有一人的境况变好，同时没有其他人

境况因此变坏，则称这一变革为帕累托变革。

以下各项都符合题干的断定，除了【E】

A.对于任何一个人来说，只要他的情况可能变好，就会有其他人的境况变坏。这样的社会，处于帕累托最优状态。

B.如果某个帕累托变革可行，则说明社会并非处于帕累托最优状态。

C.如果没有任何帕累托变革的余地，则社会处于帕累托最优状态。

D.对于任何一个人来说，只有使其他某个（或某些）人境况变坏，他的情况才能变好。这样的社会处于帕累托最优状态。

E.对于任何一个人来说，只要使其他人境况变坏，他的情况就可能变好，这样的社会处于帕累托最优状态。

【解析】

1.本题涉及知识点：

本题考查假言命题必要条件的推理。

（1）必要条件的标志词：

标准式	公式表达（干判断）	支判断		标志词
只有P才Q	P←Q（Q→P）	P	Q	只有P，才Q；没有P，没有Q 不P不Q；必须P，才Q 除非P，才Q；P是Q的前提 P是Q的基础；P是Q的先决条件

2.技巧方法：

此类题的解题方法是通过根据题干给出的陈述，找到标志词，将题干中的条件符号化，再根据对应的真值情况结合选项进行判断。

3.具体过程：

本题考查的是必要条件假言命题知识点。题干断定帕累托最优状态为："一个人使其他某个人境况变坏"是"他的情况可能变好"的必要条件，而E项则断定为充分条件。其他选项都和题干意思一致。故选E。

27.有人说："只有肯花大价钱的足球俱乐部才进得了中超足球联赛。"

如果上述命题真，可能出现的情况是：【E】

Ⅰ.某足球俱乐部花了大价钱，没有进中超。

Ⅱ.某足球俱乐部没有花大价钱，进了中超。

Ⅲ.某足球俱乐部没有花大价钱，没有进中超。

Ⅳ.某足球俱乐部花了大价钱，进了中超。

A.仅仅Ⅳ。

B.仅仅Ⅱ和Ⅲ。

C. 仅仅Ⅲ和Ⅳ。

D. 仅仅Ⅱ、Ⅲ和Ⅳ。

E. 仅仅Ⅰ、Ⅲ和Ⅳ。

【解析】

1. 本题涉及知识点：

本题考查假言命题必要条件的推理。

（1）必要条件的标志词：

标准式	公式表达（干判断）	支判断		标志词
只有 P 才 Q	P←Q（Q→P）	P	Q	只有 P，才 Q；没有 P，没有 Q 不 P 不 Q；必须 P，才 Q 除非 P，才 Q；P 是 Q 的前提 P 是 Q 的基础；P 是 Q 的先决条件

2. 技巧方法：

此类题的解题方法是通过根据题干给出的陈述，找到标志词，将题干中的条件符号化，再根据对应的真值情况结合选项进行判断。

3. 具体过程：

本题考查的是必要条件假言命题的知识点。题干断定可形式化为："进得了中超足球联赛→足球俱乐部肯花大价钱"。当Ⅱ项为真时，题干断定肯定为假，Ⅱ项是题干信息的矛盾命题，而当其他选项为真时，题干都是真的，所以当题干为真时，只有Ⅱ项不可能出现。故选 E。

28. 老师：不完成作业就不能出去玩游戏。学生：老师，我完成作业了，我可以去外边玩游戏了！老师：不对。我只是说，你们如果不完成作业就不能出去玩游戏。

除了以下哪项，其余各项都能从上面的对话中推出？【A】

A. 学生完成作业后，老师就一定会准许他们出去玩游戏。

B. 老师的意思是没有完成作业的肯定不能出去玩游戏。

C. 学生的意思是只要完成了作业，就可以出去玩游戏。

D. 老师的意思是只有完成了作业才可能出去玩游戏。

E. 老师的意思是即使完成了作业，也不一定被准许出去玩游戏。

【解析】

1. 本题涉及知识点：

本题考查假言命题必要条件的推理。

（1）必要条件的标志词：

标准式	公式表达（干判断）	支判断		标志词
只有 P 才 Q	P←Q（Q→P）	P	Q	只有 P，才 Q；没有 P，没有 Q 不 P 不 Q；必须 P，才 Q

				除非 P，才 Q；P 是 Q 的前提 P 是 Q 的基础；P 是 Q 的先决条件

2. 技巧方法：

此类题的解题方法是通过根据题干给出的陈述，找到标志词，将题干中的条件符号化，再根据对应的真值情况结合选项进行判断。

3. 具体过程：

题干信息：老师的意思是，¬完成→¬游戏；学生的意思是，完成→游戏。A 选项：老师的意思是，完成→游戏，与题干逻辑关系不一致，正确。B 选项：老师的意思是，¬完成→¬游戏，与题干逻辑关系一致，排除。C 选项：学生的意思是，完成→游戏，与题干逻辑关系一致，排除。D 选项：老师的意思是，游戏→完成，与题干逻辑关系一致，排除。E 选项：老师的意思是，“完成”无法推出“游戏”，符合题干逻辑关系，排除。故选 A。

29. 在报考研究生的应届生中，除非学习成绩名列前三位，并且有两位教授推荐，否则不能成为免试推荐生。

以下哪项如果为真，说明上述决定没有得到贯彻？【C】

Ⅰ. 余勇学习成绩名列第一，并且有两位教授推荐，但未能成为免试推荐生。

Ⅱ. 方宁成为免试推荐生，但只有一位教授推荐。

Ⅲ. 王宣成为免试推荐生，但学习成绩不在前三名。

A. 仅仅Ⅰ。

B. 仅仅Ⅰ和Ⅱ。

C. 仅仅Ⅱ和Ⅲ。

D. Ⅰ、Ⅱ和Ⅲ。

E. 以上都不是。

【解析】

1. 本题涉及知识点：

本题考查假言命题必要条件的推理。

（1）必要条件的标志词：

标准式	公式表达（干判断）	支判断		标志词
只有 P 才 Q	P←Q（Q→P）	P	Q	只有 P，才 Q；没有 P，没有 Q 不 P 不 Q；必须 P，才 Q 除非 P，才 Q；P 是 Q 的前提 P 是 Q 的基础；P 是 Q 的先决条件

2. 技巧方法：

此类题的解题方法是通过根据题干给出的陈述，找到标志词，将题干中的条件符号化，再根据对应的真值情况结合选项进行判断。

3.具体过程：

题干断定可形式化为“成为免试推荐生→成绩名列前三名，并且有两位教授推荐”。该断定要为假，必须要“成为免试推荐生”成立，且“成绩名列前三名，并且有两位教授推荐”不成立，选项Ⅱ和Ⅲ都满足了这样的条件，而选项Ⅰ没有满足。故选C。

30.某大学管理学院安排甲、乙、丙、丁、戊、己6位院务会成员暑期值班6周，每人值班一周。已知：

（1）乙第四周值班；

（2）丁和戊的值班时间都早于己；

（3）甲值班的时间早于乙，但晚于丙。

根据以上信息，第三周可以安排的值班人员有哪些？【D】

A.仅甲、丁。

B.仅甲、戊。

C.仅丁、戊。

D.仅甲、丁、戊。

E.仅丁、戊、己。

【解析】

1.本题涉及知识点：

本题考查假言命题的事实假言型。

事实假言类命题的标志：题中往往会给出多个已知条件，其中有确定的条件，如“乙第四周值班”“战争片必须在周三放”等确定的事实，其他条件都是假言命题，且选项多为事实描述的题型。

2.技巧方法：

第一步，根据假言的各个标志词，将题中的条件符号化。

第二步，从事实出发，根据口诀“肯前必肯后，否后必否前”，如已知“A→B”，若已知A为真，则必能推出B为真；若已知B为假，则必能推出A为假。再以共同的元素为桥梁，将各个条件串联。对于简单的匹配类问题，可做排除法，若较复杂则可画表格辅助判断。

第三步，根据转化信息匹配选项。

3.具体过程：

本题考查分析推理。本题有已知信息“乙第四周值班”，根据（3）可知甲和丙在前三周，甲在丙之后值班，所以丙不能在第3周值班，只能在第1、2周，甲在第2或第3周值班。此时可排除C、E。根据（2）可知，丁戊都早于己，则己是第6周值班，丁和戊可安排在第1、2、3、5周。即第三周可以安排甲、丁、戊三人。故选D。

31.某烟花专卖店销售多种烟花。已知：

（1）若不是危险性大的烟花，则它们可降解或没有漂浮物；

（2）若是新型组合烟花或危险性大的烟花，则它们不是环保类烟花。

若该店所销售的某类产品是环保类烟花，则可以推出该类烟花【B】

A.可降解。

B.若不可降解，则没有漂浮物。

C.不可降解。

D.若可降解，则有漂浮物。

E.没有漂浮物。

【解析】

1.本题涉及知识点：

本题考查假言命题的事实假言型。

事实假言类命题的标志：题中往往会给出多个已知条件，其中有确定的条件，如“乙第四周值班”“战争片必须在周三放”等确定的事实，其他条件都是假言命题，且选项多为事实描述的题型。

2.技巧方法：

第一步，根据假言的各个标志词，将题中的条件符号化。

第二步，从事实出发，根据口诀“肯前必肯后，否后必否前”，如已知“A→B”，若已知A为真，则必能推出B为真；若已知B为假，则必能推出A为假。再以共同的元素为桥梁，将各个条件串联。对于简单的匹配类问题，可做排除法，若较复杂则可画表格辅助判断。

第三步，根据转化信息匹配选项。

3.具体过程：

题干信息：

①非危险性大→可降解∨无漂浮物；

②新型∨危险性大→非环保。

题干确定事实是：是环保类烟花，结合②可推理可得出：是非新型且非危险性大的烟花，结合①可知是可降解或无漂浮物的烟花。结合选项，可排除ACE。B选项，不可降解→无漂浮物，根据选言的性质，一支为假另一支必然为真，正确。D选项，可降解→漂浮物，根据选言的性质，一支为真另一支不确定真假，排除。

故选B。

32.通过第三方招聘进入甲公司从事销售工作的职员均具有会计学专业背景。孔某的高中同学均没有会计学专业背景，甲公司销售部经理孟某是孔某的高中同学，而孔某是通过第三方招聘进入甲公司的。根据以上信息，可以得出以下项？【B】

A.孔某具有会计学专业背景。

B.孟某不是通过第三方招聘进入甲公司的。

C.孟某曾经自学了会计学专业知识。

D.孔某在甲公司做销售工作。

E.孔某和孟某在大学阶段不是同学。

【解析】

1.本题涉及知识点：

本题考查假言命题的事实假言型。

事实假言类命题的标志：题中往往会给出多个已知条件，其中有确定的条件，如“乙第四周值班”“战争片必须在周三放”等确定的事实，其他条件都是假言命题，且选项多为事实描述的题型。

2.技巧方法：

第一步，根据假言的各个标志词，将题中的条件符号化。

第二步，从事实出发，根据口诀“肯前必肯后，否后必否前”，如已知“A→B”，若已知A为真，则必能推出B为真；若已知B为假，则必能推出A为假。再以共同的元素为桥梁，将各个条件串联。对于简单的匹配类问题，可做排除法，若较复杂则可画表格辅助判断。

第三步，根据转化信息匹配选项。

3.具体过程：

题干信息：

（1）（第三方∧销售）→会计；（2）孔某高中同学→¬会计；

（3）甲公司销售孟某→孔某高中同学；（4）孔某→通过第三方。

由（3）＋（2）可推出“甲公司销售孟某→¬会计”，再结合（1）可推出孟某不是第三方招聘进入甲公司，故选B选项。其余项均不能推出。故选B。

33.宋、李、王、吴4人均订阅了《人民日报》《光明日报》《参考消息》《文汇报》中的两种报纸，每种报纸均有两人订阅，且各人订阅的均不完全相同。另外，还知道：

（1）如果吴至少订阅了《光明日报》《参考消息》中的一种，则李订阅了《人民日报》而王未订阅《光明日报》；

（2）如果李、王两人中至多有一人订阅了《文汇报》，则宋、吴均订阅了《人民日报》。

如果李订阅了《人民日报》，则可以得出以下哪项？【C】

A.宋订阅了《文汇报》。

B.宋订阅了《人民日报》。

C.王订阅了《参考消息》。

D.吴订阅了《参考消息》。

E.吴订阅了《人民日报》。

【解析】

1. 本题涉及知识点：

本题考查假言命题的事实假言型。

事实假言类命题的标志：题中往往会给出多个已知条件，其中有确定的条件，如“乙第四周值班”“战争片必须在周三放”等确定的事实，其他条件都是假言命题，且选项多为事实描述的题型。

2. 技巧方法：

第一步，根据假言的各个标志词，将题中的条件符号化。

第二步，从事实出发，根据口诀“肯前必肯后，否后必否前”，如已知“A→B”，若已知 A 为真，则必能推出 B 为真；若已知 B 为假，则必能推出 A 为假。再以共同的元素为桥梁，将各个条件串联。对于简单的匹配类问题，可做排除法，若较复杂则可画表格辅助判断。

第三步，根据转化信息匹配选项。

3. 具体过程：

关键信息：每种报纸均有两人订阅，且各人订阅的均不完全相同。题干信息：

①（吴→《光明日报》∨《参考消息》）→（李→《人民日报》∧王→¬《光明日报》）。

②（¬李∨¬王→《文汇报》）→（宋∧吴→《人民日报》）。

问题有确定信息，直接代入推理：

因为李→《人民日报》，且每种报纸均有 2 人订阅，所以宋和吴不能同时《人民日报》，结合条件②根据假言规则“否后推否前”可推知：李∧王→《文汇报》，因为每种报纸均有两人订阅，所以宋∧吴→¬《文汇报》；且各人订阅的均不完全相同，所以王→¬《人民日报》。此时根据已知列表如下：

	《人民》	《文汇》	《光明》	《参考》
李	√	√	×	×
王	×	√		
宋		×		
吴		×		

此时，吴不论怎么选都满足条件①，可得：王→¬《光明日报》，因此，王一定订阅了《参考消息》。故选 C。

34. 本科生小刘拟在 4 个学年中选修甲、乙、丙、丁、戊、己、庚、辛 8 门课程，每个学年选修其中的 1～3 门课程，每门课程均在其中的一个学年修完。同时还满足：

（1）后 3 个学年选修的课程数量均不同；

（2）丙、己和辛课程安排在一个学年，丁课程安排在紧接其后的一个学年；

（3）若第 4 学年至少选修甲、丙、丁中的 1 门课程，则第 1 学年仅选修戊、辛 2 门课程。

如果乙在丁之前的学年选修，则可以得出哪项？【A】

A. 乙在第 1 学年选修。

B.乙在第 2 学年选修。

C.丁在第 2 学年选修。

D.丁在第 4 学年选修。

E.戊在第 1 学年选修。

【解析】

1.本题涉及知识点：

本题考查假言命题的事实假言型。

事实假言类命题的标志：题中往往会给出多个已知条件，其中有确定的条件，如“乙第四周值班”“战争片必须在周三放”等确定的事实，其他条件都是假言命题，且选项多为事实描述的题型。

2.技巧方法：

第一步，根据假言的各个标志词，将题中的条件符号化。

第二步，从事实出发，根据口诀“肯前必肯后，否后必否前”，如已知“A→B”，若已知 A 为真，则必能推出 B 为真；若已知 B 为假，则必能推出 A 为假。再以共同的元素为桥梁，将各个条件串联。对于简单的匹配类问题，可做排除法，若较复杂则可画表格辅助判断。

第三步，根据转化信息匹配选项。

3.具体过程：

题干信息：

①第一年修 2 门，后三年分别修 1、2、3 门（非按照顺序）。

②丙、己、辛同一个学年，丁在之后一个学年，且是后三个之中的两个。

③（四→甲∨丙∨丁）→（一→戊∧辛）。

结合②③根据假言规则“否后推否前”推理可知，四→¬甲∧¬丙∧¬丁。结合②可知：二→丙∧己∧辛，三→丁。

问题有确切信息：乙在丁之前，直接代入推理可得：乙在第一学年修。故选 A。

35.本科生小刘拟在 4 个学年中选修甲、乙、丙、丁、戊、己、庚、辛 8 门课程，每个学年选修其中的 1～3 门课程，每门课程均在其中的一个学年修完。同时还满足：

（1）后 3 个学年选修的课程数量均不同；

（2）丙、己和辛课程安排在一个学年，丁课程安排在紧接其后的一个学年；

（3）若第 4 学年至少选修甲、丙、丁中的 1 门课程，则第 1 学年仅选修戊、辛 2 门课程。

如果甲、庚均在乙之后的学年选修，则可以得出哪项？【A】

A.戊在第 1 学年选修。

B.戊在第 3 学年选修。

C.庚在甲之前的学年选修。

D.甲在戊之前的学年选修。

E.庚在戊之前的学年选修。

【解析】

1.本题涉及知识点：

本题考查假言命题的事实假言型。

事实假言类命题的标志：题中往往会给出多个已知条件，其中有确定的条件，如“乙第四周值班”“战争片必须在周三放”等确定的事实，其他条件都是假言命题，且选项多为事实描述的题型。

2.技巧方法：

第一步，根据假言的各个标志词，将题中的条件符号化。

第二步，从事实出发，根据口诀“肯前必肯后，否后必否前”，如已知“A→B”，若已知A为真，则必能推出B为真；若已知B为假，则必能推出A为假。再以共同的元素为桥梁，将各个条件串联。对于简单的匹配类问题，可做排除法，若较复杂则可画表格辅助判断。

第三步，根据转化信息匹配选项。

3.具体过程：

根据上题已知列表：

第一学年	第二学年	第三学年	第四学年
	丙∧己∧辛	丁	¬甲∧¬丙∧¬丁

问题有确定信息：甲、庚均在乙之后的学年选修，结合已知信息，且后三年分别修1、2、3门（非按照顺序），故乙会安排在第一学年，甲、庚会安排第三第四学年，且甲安排在第三学年，庚安排在第四学年，因为四→¬甲∧¬丙∧¬丁。只剩下戊，一定安排在第一学年选修。故选A。

36.某电影院制定未来一周的排片计划。他们决定，周二至周日（周一休息）每天放映动作片、悬疑片、科幻片、纪录片、战争片、历史片6类型中的一种，各不重复。已知排片还有如下要求：

（1）如果周二或周五放映悬疑片，则周三放映科幻片。

（2）如果周四或周六放映悬疑片，则周五放映战争片。

（3）战争片必须在周三放。

根据以上信息，可以得出以下哪项？【B】

A.周六放科幻片。

B.周日放悬疑片。

C.周五放动作片。

D.周二放纪录片。

E.周四放历史片。

【解析】

1.本题涉及知识点：

本题考查假言命题的事实假言型。

事实假言类命题的标志：题中往往会给出多个已知条件，其中有确定的条件，如“乙第四周值班”“战争片必须在周三放”等确定的事实，其他条件都是假言命题，且选项多为事实描述的题型。

2.技巧方法：

第一步，根据假言的各个标志词，将题中的条件符号化。

第二步，从事实出发，根据口诀“肯前必肯后，否后必否前”，如已知“A→B”，若已知A为真，则必能推出B为真；若已知B为假，则必能推出A为假。再以共同的元素为桥梁，将各个条件串联。对于简单的匹配类问题，可做排除法，若较复杂则可画表格辅助判断。

第三步，根据转化信息匹配选项。

3.具体过程：题干信息：

①周一休息，周二至周日各不重复。（据此判断选言命题为不相容选言命题，用“∀”）

②（周二∀周五：悬疑片）→（周三：科幻片）。

③（周四∀周六：悬疑片）→（周五：战争片）。

④周三→战争片。

题干有确定信息，确定信息代入推理：

结合②④根据假言规则“否后推否前”可得：⑤¬周二∧¬周五→悬疑片；同理，结合③④可得：⑥¬周四∧¬周六→悬疑片。结合①④⑤⑥可知：周日→悬疑片。故选B。

37.某电影院制定未来一周的排片计划。他们决定，周二至周日（周一休息）每天放映动作片、悬疑片、科幻片、纪录片、战争片、历史片6类型中的一种，各不重复。已知排片还有如下要求：

（1）如果周二或周五放映悬疑片，则周三放映科幻片。

（2）如果周四或周六放映悬疑片，则周五放映战争片。

（3）战争片必须在周三放。

如果历史片的放映日期，既与纪录片相邻，又与科幻片相邻，则可得出以下哪项？【C】

A.周二放纪录片。

B.周四放纪录片。

C.周二放动作片。

D.周四放科幻片。

E.周五放动作片。

【解析】

1.本题涉及知识点：

本题考查假言命题的事实假言型。

事实假言类命题的标志：题中往往会给出多个已知条件，其中有确定的条件，如“乙第四周值班”“战争片必须在周三放”等确定的事实，其他条件都是假言命题，且选项多为事实描述的题型。

2.技巧方法：

第一步，根据假言的各个标志词，将题中的条件符号化。

第二步，从事实出发，根据口诀“肯前必肯后，否后必否前”，如已知“A→B”，若已知A为真，则必能推出B为真；若已知B为假，则必能推出A为假。再以共同的元素为桥梁，将各个条件串联。对于简单的匹配类问题，可做排除法，若较复杂则可画表格辅助判断。

第三步，根据转化信息匹配选项。

3.具体过程：

本题考查综合推理。根据上一题的已知信息列表如下：

周二	周三	周四	周五	周六	周日
	战争				悬疑

问题中有确切信息：历史片的放映日期，既与纪录片相邻，又与科幻片相邻，根据上表，可知，历史片在周五放映，纪录片与科幻片分别在周四或周六其中一天。因此，只剩下动作片和周二，所以周二放动作片。故选C。

38.“立春”“春分”“立夏”“夏至”“立秋”“秋分”“立冬”“冬至”是我国二十四节气中的八个节气，“凉风”“广莫风”“明庶风”“条风”“清明风”“景风”“阊阖风”“不周风”是八种节风。上述八个节气与八种节风之间一一对应。已知：

（1）“立秋”对应“凉风”；

（2）“冬至”对应“不周风”“广莫风”之一；

（3）若“立夏”对应“清明风”，则“夏至”对应“条风”或者“立冬”对应“不周风”；

（4）若“立夏”不对应“清明风”或者“立春”不对应“条风”，则“冬至”对应“明庶风”。

根据上述信息，可以得出以下哪项？【B】

A.“秋分”不对应“明庶风”。

B.“立冬”不对应“广莫风”。

C.“夏至”不对应“景风”。

D.“立夏”不对应“清明风”。

E.“春分”不对应“阊阖风”。

【解析】

1.本题涉及知识点：

本题考查假言命题的事实假言型。

事实假言类命题的标志：题中往往会给出多个已知条件，其中有确定的条件，如“乙第四周值班”“战争片必须在周三放”等确定的事实，其他条件都是假言命题，且选项多为事实描述的

题型。

2.技巧方法：

第一步，根据假言的各个标志词，将题中的条件符号化。

第二步，从事实出发，根据口诀“肯前必肯后，否后必否前”，如已知“A→B”，若已知A为真，则必能推出B为真；若已知B为假，则必能推出A为假。再以共同的元素为桥梁，将各个条件串联。对于简单的匹配类问题，可做排除法，若较复杂则可画表格辅助判断。

第三步，根据转化信息匹配选项。

3.具体过程：

关键信息：八个节气与八种节风之间一一对应。题干信息：

①立秋→凉风。

②冬至→不周风∨广莫风。

③（立夏→清明风）→【（夏至→条风）∨（立冬→不周风）】。

④【（立夏→¬清明风）∨（立春→¬条风）】→（冬至→明庶风）。

根据假言规则“否后推否前”结合②④推理得：⑤立夏→清明风；⑥立春→条风；结合③⑤⑥推理得：⑦立冬→不周风；结合选项，“立冬”不对应“广莫风”是正确的。故选B。

39.“立春”“春分”“立夏”“夏至”“立秋”“秋分”“立冬”“冬至”是我国二十四节气中的八个节气，“凉风”“广莫风”“明庶风”“条风”“清明风”“景风”“阊阖风”“不周风”是八种节风。上述八个节气与八种节风之间一一对应。已知：

（1）“立秋”对应“凉风”；

（2）“冬至”对应“不周风”“广莫风”之一；

（3）若“立夏”对应“清明风”，则“夏至”对应“条风”或者“立冬”对应“不周风”；

（4）若“立夏”不对应“清明风”或者“立春”不对应“条风”，则“冬至”对应“明庶风”。

若“春分”和“秋分”两节气对应的节风在“明庶风”和“阊阖风”之中，则可以得出以下哪项？【E】

A.“春分”对应“阊阖风”。

B.“秋分”对应“明庶风”。

C.“立春”对应“清明风”。

D.“冬至”对应“不周风”。

E. “夏至”对应“景风”。

【解析】

1.本题涉及知识点：

本题考查假言命题的事实假言型。

事实假言类命题的标志：题中往往会给出多个已知条件，其中有确定的条件，如“乙第四周值班”“战争片必须在周三放”等确定的事实，其他条件都是假言命题，且选项多为事实描述的

题型。

2.技巧方法：

第一步，根据假言的各个标志词，将题中的条件符号化。

第二步，从事实出发，根据口诀“肯前必肯后，否后必否前”，如已知“A→B”，若已知A为真，则必能推出B为真；若已知B为假，则必能推出A为假。再以共同的元素为桥梁，将各个条件串联。对于简单的匹配类问题，可做排除法，若较复杂则可画表格辅助判断。

第三步，根据转化信息匹配选项。

3.具体过程：

本题考查分析推理。问题已知信息：“春分”和“秋分”分别对应“明庶风”和“阊阖风”之一。根据上题解析，结合②⑦推理得：⑧冬至→广莫风。根据①⑤⑥⑦⑧，结合问题已知信息可知，只剩余节气“夏至”和节风“景风”，故选E。

40.某公司甲、乙、丙、丁、戊5人爱好出国旅游。去年，在日本、韩国、英国和法国4国中，他们每人都去了其中的两个国家旅游，且每个国家总有他们中的2～3人去旅游。已知：

（1）如果甲去韩国，则丁不去英国。

（2）丙与戊去年总是结伴出国旅游。

（3）丁和乙只去欧洲国家旅游。

根据以上信息，可以得出以下哪项？【E】

A.甲去了韩国和日本。

B.乙去了英国和日本。

C.丙去了韩国和英国。

D.丁去了日本和法国。

E.戊去了韩国和日本。

【解析】

1.本题涉及知识点：

本题考查假言命题的事实假言型。

事实假言类命题的标志：题中往往会给出多个已知条件，其中有确定的条件，如“乙第四周值班”“战争片必须在周三放”等确定的事实，其他条件都是假言命题，且选项多为事实描述的题型。

2.技巧方法：

第一步，根据假言的各个标志词，将题中的条件符号化。

第二步，从事实出发，根据口诀“肯前必肯后，否后必否前”，如已知“A→B”，若已知A为真，则必能推出B为真；若已知B为假，则必能推出A为假。再以共同的元素为桥梁，将各个条件串联。对于简单的匹配类问题，可做排除法，若较复杂则可画表格辅助判断。

第三步，根据转化信息匹配选项。

3.具体过程：

本题考查综合推理。根据题干关键词“如果……则……”判定为假言命题。题干关键信息：每人都去两个国家；每个国家至少有 2 人去，至多有 3 个人去。

据此可知题干信息：

①（甲→韩）→（丁→¬英）。

②丙∧戊。

③（丁∧乙）→[（英∧法）∧（¬日∧¬韩）]。

结合①③，可知：甲→¬韩。由于每个国家至少有 2 人去，至多有 3 个人去，结合（2）可推知，丙、戊去了韩国、日本。故选 E。

41.某公司甲、乙、丙、丁、戊 5 人爱好出国旅游。去年，在日本、韩国、英国和法国 4 国中，他们每人都去了其中的两个国家旅游，且每个国家总有他们中的 2～3 人去旅游。已知：

（1）如果甲去韩国，则丁不去英国。

（2）丙与戊去年总是结伴出国旅游。

（3）丁和乙只去欧洲国家旅游。

如果 5 人去欧洲国家旅游的总人次与去亚洲国家的一样多，则可以得出以下哪项？【A】

A.甲去了日本。

B.甲去了英国。

C.甲去了法国。

D.戊去了英国。

E.戊去了法国。

【解析】

1.本题涉及知识点：

本题考查假言命题的事实假言型。

事实假言类命题的标志：题中往往会给出多个已知条件，其中有确定的条件，如“乙第四周值班”“战争片必须在周三放”等确定的事实，其他条件都是假言命题，且选项多为事实描述的题型。

2.技巧方法：

第一步，根据假言的各个标志词，将题中的条件符号化。

第二步，从事实出发，根据口诀“肯前必肯后，否后必否前”，如已知“A→B”，若已知 A 为真，则必能推出 B 为真；若已知 B 为假，则必能推出 A 为假。再以共同的元素为桥梁，将各个条件串联。对于简单的匹配类问题，可做排除法，若较复杂则可画表格辅助判断。

第三步，根据转化信息匹配选项。

3.具体过程：

问题信息：5 人去欧洲国家旅游的总人次与去亚洲国家的一样多。根据上一题的推论，已知：

丙、戊去了日本、韩国；丁、乙去了法国、英国；甲不去韩国。此时亚洲国家的人次和欧洲国家的人次持平，故甲一定去了一个亚洲国家和一个欧洲国家，且他去的亚洲国家是日本。故选A。

42.已知：第一，《神鞭》的首次翻译出版用的或者是英语或者是日语，二者必居其一。第二，《神鞭》的首次翻译出版或者在旧金山或者在东京，二者必居其一。第三，《神鞭》的译者或者是林浩如或者是胡乃初，二者必居其一。

如果上述断定都是真的，那么以下哪项也一定是真的？【B】

Ⅰ.《神鞭》不是林浩如用英语在旧金山首次翻译出版的，因此，《神鞭》是胡乃初用日语在东京首次翻译出版的。

Ⅱ.《神鞭》是林浩如用英语在东京首次翻译出版的，因此，《神鞭》不是胡乃初用日语在东京首次翻译出版的。

Ⅲ.《神鞭》的首次翻译出版是在东京，但不是林浩如用英语翻译出版的，因此，一定是胡乃初用日语翻译出版的。

A.仅Ⅰ。

B.仅Ⅱ。

C.仅Ⅲ。

D.仅Ⅱ和Ⅲ。

E.Ⅰ、Ⅱ和Ⅲ。

【解析】

1.本题涉及知识点：

本题考查假言命题的半事实假言型。

半事实假言型命题的标志：题中的已知条件没有确定的事实，但是给出不相容的选言条件或相容选言条件（即不确定性较少的信息）的题型。

2.技巧方法：

第一步，根据假言的各个标志词，将题中的条件符号化。

第二步，从半事实出发，进行分类讨论，若情况1不成立，情况2成立，则情况2推出的结论即为答案；若情况2不成立，情况1成立，则情况1推出的结论即为答案；若情况1和情况2推出了相同的结论，则这一共同的结论即为答案；情况1推出结论A，情况2推出结论B，则答案为A∨B。对于匹配类问题简单的可做排除法，叫复杂时画表格辅助判断。

第三步，根据转化信息匹配选项。

3.具体过程：

本题考查假言命题推理规则，《神鞭》不是林浩如用英语在旧金山首次翻译出版的，这是一个联言命题的负命题，它的意思是：《神鞭》或者不是林浩如或者不是用英语或者不是在旧金山首次翻译出版的，包含多种情况，不一定就是某一种情况，所以，Ⅰ不一定真。《神鞭》不是

林浩如用英语翻译出版的，也是一个联言命题的负命题，它的意思是：《神鞭》不是林浩如或者不是用英语翻译出版的，也不一定就是某一种情况，所以，Ⅲ不一定是真的。Ⅱ一定是真的。因为既然是其中的一种情况，就不可能是别的情况。故选 B。

43.如果赵川参加宴会，那么钱华、孙旭和李元将一起参加宴会。

如果上述断定是真的，那么以下哪项也是真的？【E】

A.如果赵川没参加宴会，那么钱华、孙旭和李元三人中至少有一人没参加宴会。

B.如果赵川没参加宴会，那么钱华、孙旭和李元都没参加宴会。

C.如果钱华、孙旭和李元都参加了宴会，那么赵川参加了宴会。

D.如果李元没参加宴会，那么钱华和孙旭不会都参加宴会。

E.如果孙旭没参加宴会，那么赵川和李元不会都参加宴会。

【解析】

1.本题涉及知识点：

本题考查假言命题的假言推假言型。

假言推事实型命题的标志：已知条件均为假言命题，没有事实或半事实，可能性相对来说最多的题型。

此处常用的方法为“串联找矛盾法”和“二难推理公式法”。

（1）“串联找矛盾法”

①若从“A”出发推出与已知条件矛盾，则“A”为假。

②同样的，若从“¬A”出发推出与已知条件矛盾，则“¬A”为假。

③若从“A”推出“¬A”或从“¬A”推出“A”，均矛盾，依次说明“A 为假”或“A 为真”。

（2）“二难推理法”：

①进退两难：A∨¬A；A→B；¬A→C；则 B∨C。

②左右为难：A∨B；A→C；B→D；则 C∨D。

③迎难而上：A∨¬A；A→B；¬A→B；则 B。

④难以发生：A→B 等价于¬B→¬A；A→¬B 等价于 B→¬A。则¬A。

⑤难上加难：A∧B；A→C；B→D；则 C∧D。

2.技巧方法：

第一步，根据假言的各个标志词，将题中的条件符号化。

第二步，方法主要分为“串联找矛盾法”或通过找重复元素，再用“二难推理公式法”。

第三步，根据转化信息匹配选项。

3.具体过程：

本题考查的是假言命题的推理规则。充分条件的假言推理可以从肯定前件到肯定后件，也可以从否定后件到否定前件，其他情况均不成立。A、B 两项都从否定前件开始，显然均不成立。C 项从肯定后件开始也是不成立的。D 项只是在后件内部进行推导，后件是一个联言命题，显然

不能从一个联言肢为假推出其他联言肢是假的。E 项中由孙旭没参加宴会，可知：钱华、升旭和李元不会都参加宴会，即题干中充分条件的假言命题的后件是假的，进而可以推出该充分条件的假言命题的前件是假的，即赵川没参加宴会。既然赵川没参加宴会，则赵川和李元青定就不会参加宴会，因为联言命题有一个肢命题假，则整个联言命题假。需要注意的是，这里是“不会都”，并不是“都不会”。故选 E。

44.以下关于某案件的四个断定中，只有一个是真的：

（1）如果甲作案，那么乙是同案犯。

（2）作案者是丙。

（3）作案者是甲。

（4）作案者是甲或丁。

这一真的断定是：【A】

A.（1）。

B.（2）。

C.（3）。

D.（4）。

E.无法确定。

【解析】

1.本题涉及知识点：

本题考查假言命题的假言推事实型。

假言推假言型命题的标志：题干由多个假言命题组成，且这些假言命题中有重复的元素或没有重复元素，且选项均为假言命题或多数为假言命题，前者为“可串联型”，后者为“不可串联型”。

2.技巧方法：

第一步，根据假言的各个标志词，将题中的条件符号化。

第二步，对于可串联型，寻找题干中重复的元素做串联，并根据“有箭头指向的为真，没有箭头指向的可真可假”的原则进行推理；若题干中没有重复元素，无法实现串联，则可通过排除法代入求解。

第三步，根据转化信息匹配选项。

3.具体过程：

本题综合考查了直言和假言命题的矛盾关系。如果（3）真，则（4）真，所以（3）一定是假的，即甲不是作案者。这时（1）的前件“甲作案”为假，所以，（1）为真，因为充分条件命题在前件为假的情况下总是真的。故选 A。

45.在黑、蓝、黄、白四种由深至浅排列的涂料中，一种涂料只能被它自身或者比它颜色更深的涂料所覆盖。

如果上述断定是真的，那么以下哪一项确切地概括了能被蓝色所覆盖的颜色？【B】

Ⅰ.这种颜色不是蓝色。

Ⅱ.这种颜色不是黑色。

Ⅲ.这种颜色不如蓝色深。

A.只有Ⅰ。

B.只有Ⅱ。

C.只有Ⅲ。

D.只有Ⅰ和Ⅱ。

E.Ⅰ、Ⅱ和Ⅲ。

【解析】

1.本题涉及知识点：

本题考查假言命题的假言推事实型。

假言推假言型命题的标志：题干由多个假言命题组成，且这些假言命题中有重复的元素或没有重复元素，且选项均为假言命题或多数为假言命题，前者为“可串联型”，后者为“不可串联型”。

2.技巧方法：

第一步，根据假言的各个标志词，将题中的条件符号化。

第二步，对于可串联型，寻找题干中重复的元素做串联，并根据“有箭头指向的为真，没有箭头指向的可真可假”的原则进行推理；若题干中没有重复元素，无法实现串联，则可通过排除法代入求解。

第三步，根据转化信息匹配选项。

3.具体过程：

由Ⅱ“这种颜色不是黑色”可知，这种颜色或者是蓝色或者是黄色或者是白色，不管是其中哪一种颜色，都能够被蓝色所覆盖，所以，Ⅱ能够确切概括能被蓝色覆盖的颜色。“这种颜色不是蓝色”，它就有可能是黑色，当是黑色时，这种颜色就不能被蓝色所覆盖。所以，Ⅰ不能确切概括能被蓝色覆盖的颜色。又根据Ⅲ“这种颜色不如蓝色深”可知，这种颜色或者是黄色或者是白色，当然黄色或白色显然能被蓝色所覆盖，但是能够被蓝色所覆盖的颜色不只是黄色或者白色，蓝色自身也能够被蓝色所覆盖。所以，Ⅲ不是能够被蓝色所覆盖的颜色。故选B。

46.某城市有两大支柱产业：旅游业和传统手工业。发展传统手工业势必会导致污染，从而破坏生态环境；但是，良好的生态环境又是发展旅游业的必要条件。

以下哪个选项能作为结论从上述论断中推出？【A】

A.该城市无法同时发展旅游业和传统手工业。

B.市政府应该大力加强保护生态环境。

C.该城市的经济收入主要依靠传统手工业。

D.应该用其他产业代替旅游业和传统手工业。

E.如果生态环境破坏了，则传统手工业就不能发展。

【解析】

1.本题涉及知识点：

本题考查假言命题的矛盾判断与等价判断。

（1）矛盾判断

①充分条件假言判断的矛盾判断：P→Q 的矛盾判断是 P∧¬ Q。

②充要条件假言判断的矛盾判断：P↔Q＝P→Q∧Q→P。因此 P↔Q 的矛盾判断是：

¬（P→Q∧Q→P）＝¬（P→Q）∨¬（Q→P）＝（P∧¬ Q）∨（Q∧¬ P）。

（2）等价判断（原命题与矛盾命题的矛盾等价）

①充分条件假言判断的等价判断：P→Q 的等价判断是¬ P∨Q。

②充要条件假言判断的等价判断：P↔Q＝P→Q∧Q→P＝（¬ P∨Q）∧（¬ Q∨P）。

根据“原命题”与“矛盾命题的矛盾”等价可得：

P↔Q＝¬【（P∧¬ Q）∨（Q∧¬ P）】＝¬（P∧¬ Q）∧¬（Q∧P）＝（¬ P∨Q）∧（¬ Q∨P）。

2.技巧方法：

此类题的解题方法是通过根据题干给出的陈述，找到标志词，将题干中的条件符号化，再利用矛盾判断和等价判断的公式转化为联言和选言命题。

3.具体过程：

题干信息：①手工→¬环境；②旅游业→环境。结合①②可得：③手工→¬环境→¬旅游业。由③可知，如果发展传统手工业就无法发展旅游业，如果发展旅游业就无法发展传统手工业，所以无法同时发展旅游业和传统手工业。故选 A。

推理结构、集合推理

1.所有参加奥运会的选手都是全运会冠军，所有全运会冠军都是从小开始培养的，但是有一些参加奥运会的选手是天赋异禀的。

以下哪项不能从上述前提中得出？【B】

A.有些天赋异禀的选手是从小培养的。

B.从小培养的选手都参加了奥运会。

C.有些从小培养的选手是天赋异禀的。

D.有些全运会冠军是天赋异禀的。

E.参加奥运会的选手都是从小培养的。

【解析】

1.本题涉及知识点：

本题考查全称、特称与单称之间的推理。

（1）全称命题为真，特称和单称命题也都为真。

（2）单称命题为真，只能推出特称命题为真。

换位规则：

（一）全称用单箭头“→”表示

规则：只可逆否，不可换位。

（1）S→P＝¬ P→¬ S。

（2）S→¬ P＝P→¬ S。

（二）特称用双箭头“⟹”表示

规则：只可换位，不可逆否。

（1）有的 S⟹P＝有的 P⟹S。

（2）有的 S⟹¬ P＝有的¬ P⟹S。

（三）“全称”推“特称”

即：S→P 为真时，可知：①有的 S⟹P 为真；②有的 P⟹S 为真。

2.技巧方法：

此类题的解题方法是通过根据题干给出的条件，结合对当方阵，找到对应的位置，再结合选项进行判断。

3.具体过程：

根据题干：①参加奥运会的选手→全运会冠军；②全运会冠军→从小开始培养；③有的参加奥运会的选手⟹天赋异禀。第一步，联合①和②可得：④参加奥运会的选手→全运会冠军→从小开始培养。第二步，从“有的”出发，根据“首尾相连”的原则，联合③和④可得：⑤有的天赋异禀⟹参加奥运会的选手⟹全运会冠军⟹从小开始培养。第三步，分析选项。由⑤及其换位可得，A、C、D 选项均为真；由于“S→P”为真时，不能换位得出“P→S”为真，因此

B 选项无法判断。E 选项可直接由④得出。

故选 B。

2.某同学统计发现，在他认识的人中，所有重庆人都喜欢吃辣的，有些东北人不喜欢吃辣的，喜欢吃辣的人都长得好看，不喜欢吃辣的人长得都高。

根据该同学的统计，以下哪项断定必然为真？【E】

A.所有东北人都高。

B.有些东北人喜欢吃辣的。

C.有些东北人比重庆人更能吃辣的。

D.重庆人比东北人更能吃辣的。

E.长得不好看的人都不是重庆人。

【解析】

1.本题涉及知识点：

本题考查全称、特称与单称之间的推理。

（1）全称命题为真，特称和单称命题也都为真。

（2）单称命题为真，只能推出特称命题为真。

2.技巧方法：

此类题的解题方法是通过根据题干给出的条件，结合对当方阵，找到对应的位置，再结合选项进行判断。

3.具体过程：

第一步，整理题干信息：①重庆人→喜欢吃辣的人；②有的东北人⟹不喜欢吃辣的；③喜欢吃辣的人→长得好看；④不喜欢吃辣的人→长得高。第二步，寻找重复的词，构成首尾相连，可联合①和③可得：⑤重庆人→喜欢吃辣的人→长得好看。从“有的”出发，联合②和④可得：⑥有的东北人⟹不喜欢吃辣的⟹长得高。第三步，分析选项。由⑥可知，A 选项与之不矛盾，故无法判断真假；由②可知，B 选项与之构成下反对关系，故至少有一真；C 和 D 选项显然无法判断，题干缺少吃辣程度的比较；E 选项＝长得不好看→不是重庆人，恰好是⑤的逆否等价判断，一定为真。

故选 E。

3.通过对某高校科研成果进行统计发现：所有核心期刊上发表的论文都是会计学院讲师发表的；所有会计学院教授发表的论文都属于核心期刊上发表的论文；所有核心期刊上发表的论文不是自然科学论文；所有不需要版面费就能发表的论文是自然科学论文。

根据以上陈述，以下哪项是不一定为真的？【D】

A.所有不需要版面费就能发表的论文不是核心期刊上发表的论文。

B.有些会计学院讲师发表的论文不是自然科学论文。

C.有些会计学院讲师发表的论文是需要版面费就能发表的论文。

D.有些不需要版面费就能发表的论文不是会计学院讲师发表的论文。

E.所有会计学院教授发表的论文都是需要版面费就能发表的论文。

【解析】

1.本题涉及知识点：

本题考查全称、特称与单称之间的换位推理。

（一）全称用单箭头“→”表示

规则：只可逆否，不可换位。

（1）S→P＝¬ P→¬ S。

（2）S→¬ P＝P→¬ S。

（二）特称用双箭头“⟹”表示

规则：只可换位，不可逆否。

（1）有的 S⟹P＝有的 P⟹S。

（2）有的 S⟹¬ P＝有的¬ P⟹S。

（三）“全称”推“特称”

即：S→P 为真时，可知：①有的 S⟹P 为真；②有的 P⟹S 为真。

2.技巧方法：

此类题的解题方法是通过根据题干给出的条件，结合对当方阵，找到对应的位置，再结合选项进行判断。

3.具体过程：

题干信息：①核心期刊上发表的论文→会计学院讲师发表的；②会计学院教授发表的论文→核心期刊上发表的论文；③核心期刊上发表的论文→不是自然科学论文；④不需要版面费就能发表的论文→自然科学论文；联合②③④可得：⑤会计学院教授发表的论文→核心期刊上发表的论文→不是自然科学论文→需要版面费就能发表的论文。

第一步，先判定“所有”的选项，A 选项可由⑤逆否可得：E 选项可直接由⑤可得。

第二步，再判定“有的”选项，剩余三个选项均涉及“需要版面费就能发表的论文”和“自然科学论文”“会计学院讲师发表的”的关系，故只能考虑以“核心期刊上发表的论文”为中项，由①可得：有的会计学院讲师发表的⟹核心期刊上发表的论文。再联合⑤可得：有的会计学院讲师发表的⟹核心期刊上发表的论文⟹不是自然科学论文⟹需要版面费就能发表的论文。根据“有的”只能换位，不能逆否的原则，可知选项 B 和 C 均一定为真，D 无法判断真假。故选 D。

4.根据最近一次的人口调查分析：所有单身者都具有独立经济能力；所有具有独立经济能力的人都具有强烈的竞争意识；所有赋闲在家的人都不具有独立经济能力；所有高中辍学者都是赋闲在家的人。

如果上述断定为真，以下哪项不一定为真？【E】

A.所有高中辍学者都不是单身者。

B.所有具有独立经济能力的人都不是高中辍学者。

C.有些具有强烈的竞争意识的人不是高中辍学者。

D.有些具有强烈的竞争意识的人不是赋闲在家的人。

E.有些高中辍学者不是具有强烈的竞争意识的人。

【解析】

1.本题涉及知识点：

本题考查全称、特称与单称之间的换位推理。

（一）全称用单箭头“→”表示

规则：只可逆否，不可换位。

（1）S→P＝¬ P→¬ S。

（2）S→¬ P＝P→¬ S。

（二）特称用双箭头“⟹”表示

规则：只可换位，不可逆否。

（1）有的 S⟹P＝有的 P⟹S。

（2）有的 S⟹¬ P＝有的¬ P⟹S。

（三）“全称”推“特称”

即：S→P 为真时，可知：①有的 S⟹P 为真；②有的 P⟹S 为真。

2.技巧方法：

此类题的解题方法是通过根据题干给出的条件，结合对当方阵，找到对应的位置，再结合选项进行判断。

3.具体过程：

题干信息：①单身者→具有独立经济能力；②独立经济能力的人→有强烈的竞争意识；③赋闲在家的人→不具有独立经济能力；④高中辍学者→赋闲在家的人。

第一步，联合③和④得：⑤高中辍学者→赋闲在家的人→不具有独立经济能力。联合①和②得：⑥单身者→具有独立经济能力→强烈的竞争意识。

第二步，联合①和⑤得：⑦高中级学者→赋闲在家的人→不具有独立经济能力→不是单身者。选项 A、B 与①一致，一定真。

第三步，剩余三个选项均涉及“强烈的竞争意识”和“辍学”“赋闲在家”的关系，故只能考虑以“具有独立经济能力”为中项，由②可得：有的有强烈的竞争意识⟹具有独立经济能力的人。再联合⑤（需逆否）可得：有的有强烈的竞争意识⟹具有独立经济能力的人⟹不是赋闲在家的人⟹不是高中辍学者。根据“有的”能换位，但不能逆否，可得 C 和 D 均一定为真，E 选项无法判断真假。

故选 E。

5.若“所有的投资人都是理性的”为真，则以下一定正确的是【B】

A.马总是某著名投资人，但马总不理性。

B.有的理性的人是投资人。

C.所有的理性的人都是投资人。

D.有的理性的人不是投资人。

E.所有的理性的人都不是投资人。

【解析】

1.本题涉及知识点：

本题考查全称、特称之间的推理。

“全称”推“特称”

即：S→P 为真时，可知：①有的 S⟹P 为真；②有的 P⟹S 为真。

2.技巧方法：

此类题的解题方法是通过根据题干给出的条件，结合对当方阵，找到对应的位置，再结合选项进行判断。

3.具体过程：

通过所有的投资人都是理性的（S→P）可以得到：①有的投资人都是理性的（有的 S⟹P）；②有的理性的人是投资人（有的 P⟹S），B 正确。故选 B。

6.没有一个草率的人是可以统领全局的，而圣约翰大学的毕业生都可以统领全局。所以，圣约翰大学的毕业生肯定没有接受过所谓风暴式训练方法的训练。

为了合乎逻辑地推出上述结论，需要假设下面哪项为前提？【E】

A.圣约翰大学的毕业生不草率。

B.不草率的人都接受过所谓风暴式训练方法的训练。

C.接受过所谓风暴式训练方法训练的人都不草率。

D.草率的人都接受过所谓风暴式训练方法的训练。

E.如果一个人不草率，那么他就没有接受过所谓风暴式训练方法的训练。

【解析】

1.本题涉及知识点：

本题考查直言判断的三段论推理模型。

前提：A→B；B→C。结论：A→C。

例如：所有 MBA 学生都是有工作经验的，所有有工作经验的人都是有实践能力的，因此，所有 MBA 学生都是有实践能力的。

2.技巧方法：

此类题的解题方法是通过根据题干给出的条件，将对应的条件符号化，再对应三段论模型，结合选项进行判断。

3.具体过程：

第一步，整理题干论证。前提：①草率的人→不可以统领全局的；②圣约翰大学的毕业生→可以统领全局。→结论：圣约翰大学的毕业生→没有接受过所谓风暴式训练方法的训练。

第二步，分析题干论证。题干两个前提共同作为结论的前提，可先将①和②联合推出：③圣约翰大学的毕业生→不草率。

第三步，根据直言判断综合推理的基本模型，重复的项“圣约翰大学的毕业生”左对齐，补“上推下”即可。也就是“不草率→没有接受过所谓风暴式训练方法的训练”。

故选 E。

7.在大英博物馆，所有中世纪的藏品都陈列在珍品区，博物馆为所有陈列在珍品区的藏品购买了全额保险。所以，爱尔兰画家的油画都不是中世纪的藏品。

以下哪项为真，可以保证上述推理的正确？【C】

A.爱尔兰画家的油画不都在珍品区。

B.博物馆为爱尔兰画家的油画也购买了全额保险。

C.博物馆购买全额保险的藏品中不包括爱尔兰画家的油画。

D.爱尔兰画家都是现代画家。

E.大英博物馆藏品中事实上没有爱尔兰画家的油画。

【解析】

1.本题涉及知识点：

本题考查直言判断的三段论推理模型。

前提：A→B；B→C。结论：A→C。

例如：所有 MBA 学生都是有工作经验的，所有有工作经验的人都是有实践能力的，因此，所有 MBA 学生都是有实践能力的。

2.技巧方法：

此类题的解题方法是通过根据题干给出的条件，将对应的条件符号化，再对应三段论模型，结合选项进行判断。

3.具体过程：

第一步，整理题干论证。前提：①中世纪的藏品→陈列在珍品区；②陈列在珍品区的藏品→购买了全额保险。→结论：爱尔兰画家的油画→不是中世纪的藏品。

第二步，分析题干论证。题干两个前提共同作为结论的前提，可先将①和②联合推出：③中世纪的藏品→购买了全额保险。

第三步，根据直言判断综合推理的基本模型，重复的项“中世纪的藏品”左对齐，补“上推下”即可。也就是“购买了全额保险→不包括爱尔兰画家的油画”。

故选 C。

8.翠竹的大学同学都在某德资企业工作，溪兰是翠竹的大学同学，洞松是该德资企业的部门经理。该德资企业的员工有些来自淮安。该德资企业的员工都曾到德国研修，他们都会说德语。以下哪项可以从以上陈述中得出？【D】

A.洞松与溪兰是大学同学。

B.翠竹的大学同学有些是部门经理。

C.翠竹与洞松是大学同学。

D.溪兰会说德语。

E.洞松来自淮安。

【解析】

1.本题涉及知识点：

本题考查直言判断的三段论推理模型。

前提：A→B；B→C。结论：A→C。

例如：所有 MBA 学生都是有工作经验的，所有有工作经验的人都是有实践能力的，因此，所有 MBA 学生都是有实践能力的。

2.技巧方法：

此类题的解题方法是通过根据题干给出的条件，将对应的条件符号化，再对应三段论模型，结合选项进行判断。

3.具体过程：

题干信息：①翠竹的大学同学→德资；②溪兰→翠竹的大学同学；③洞松→德资经理；④有些德资→淮安；⑤德资→德国研修；⑥德资→德语。由②①⑤⑥传递可得：溪兰→翠竹的大学同学→德资→德国研修∧德语。当看到题干信息形成链条时，正确答案大概率是链条首尾，即溪兰普到德国研修，溪兰会说德语。

故选 D。

9.在清北中学初二③班，有些喜欢舞蹈的同学数学成绩不优秀，所有的逻辑思维能力强的学生都善于思考，所有数学成绩不优秀的学生都不善于思考。

如果上述断定是真的，则以下哪项关于该班级的断定必然是真的？【C】

A.所有喜欢舞蹈的同学都是逻辑思维能力强的学生。

B.有些喜欢舞蹈的同学是善于思考的。

C.有些喜欢舞蹈的同学的逻辑思维能力不强。

D.并非所有逻辑思维能力强的学生都喜欢舞蹈。

E.某些数学成绩不优秀的学生是逻辑思维能力强的。

【解析】

1.本题涉及知识点：

本题考查直言三段论模型。

前提：A→B；有的 C⟹A。结论：有的 C⟹B。

例如：所有失去的都会以另一种方式归来，有的美好也会失去，因此，有的美好会以另一种方式归来。

2.技巧方法：

此类题的解题方法是通过根据题干给出的条件，将对应的条件符号化，再对应三段论模型，结合选项进行判断。

3.具体过程：

第一步，整理题干信息：①有的喜欢跳舞的同学⟹数学成绩不优秀；②逻辑思维能力强的学生→善于思考；③数学成绩不优秀的→不善于思考。第二步，联合②和③可得：④逻辑思维能力强→善于思考→数学成绩优秀。第三步，从“有的”出发，联合①和④（可逆否）可得：有的喜欢跳舞的同学⟹数学成绩不优秀⟹不善于思考⟹逻辑思维能力不强。

故选 C。

10.在全球金融风暴中，处于风口浪尖的进出口行业受到的冲击最直接也最严重。某网站统计调查发现，无法自负盈亏的企业都是传统棉纺织加工型企业；有些初创型科技企业获得了风险投资；获得了风险投资的企业多少都有融资经验。据此，该网站的结论是：传统棉纺织加工型企业都没有融资经验。

以下哪一项为真，最能反驳该网站的调查结论？【C】

A.无法自负盈亏的企业都是初创型科技企业。

B.有些初创型科技企业能够自负盈亏。

C.初创型科技企业都无法自负盈亏。

D.初创型科技企业都能够自负盈亏。

E.有些传统棉纺织加工型企业是初创型科技企业。

【解析】

1.本题涉及知识点：

本题考查直言三段论模型。

前提：A→B；有的 C⟹A。结论：有的 C⟹B。

例如：所有失去的都会以另一种方式归来，有的美好也会失去，因此，有的美好会以另一种方式归来。

2.技巧方法：

此类题的解题方法是通过根据题干给出的条件，将对应的条件符号化，再对应三段论模型，结合选项进行判断。

3.具体过程：题干信息：①无法自负盈亏的企业→传统棉纺织加工型企业；②有的初创型科技企业⟹获得风险投资；③获得风险投资→有融资经验。结论：传统棉纺织加工企业→没有融资经验。

第一步，要反驳结论，可先找到结论的矛盾，再补前提得出这个矛盾即可。故结论的矛盾是：④有的传统棉纺织加工企业⟹有融资经验。

第二步，联合②和③可得：⑤有的初创型科技企业⟹获得风险投资⟹有融资经验。

第三步，补前提时，须将重复的词“有融资经验”左对齐，故题干结构可变为：

前提⑤（需换位）：有的有融资经验⟹获得风险投资⟹初创型科技企业。

前提①：无法自负盈亏的企业➞传统棉纺织加工型企业。

补前提⑤：初创型科技企业➞无法自负盈亏的企业（C 选项）。

结论④（需换位）：有的有融资经验⟹传统棉纺织加工企业。

提示：从题干前提⑤出发，可得：有的有融资经验⟹初创型科技企业，要想得出结论，只需要搭桥建立“初创型科技企业”和“无法自负盈亏的企业”之间的关系即可。

故选 C。

11.某票务平台研究发现，所有引起观众共鸣的电影都是具有高票房的电影，所有高票房的电影都选择在节假日上映，而有的动作片是引起观众共鸣的电影。

如果上述断定为真，以下哪项一定为假？【B】

A.有的选择在节假日上映的电影是动作片。

B.所有动作片都没有选择在节假日上映。

C.有的没有高票房的电影是动作片。

D.选择在节假日上映的电影不都是动作片。

E.动作片不都是选择在节假日上映的电影。

【解析】

1.本题涉及知识点：

本题考查直言三段论模型。

前提：A➞B；有的 C⟹A。结论：有的 C⟹B。

例如：所有失去的都会以另一种方式归来，有的美好也会失去，因此，有的美好会以另一种方式归来。

2.技巧方法：

此类题的解题方法是通过根据题干给出的条件，将对应的条件符号化，再对应三段论模型，结合选项进行判断。

3.具体过程：

整理题干信息:①引起观众共鸣的电影➞高票房的电影;②高票房的电影➞选择在节假日上映;③有的动作片⟹引起观众共鸣的电影。联合①和②，可得：④引起观众共鸣的电影➞高票房的电影➞选择在节假日上映。联合③④可得：⑤有的动作片⟹引起观众共鸣的电影⟹高票房的电影⟹选择在节假日上映。

选项 A 可由结论⑤换位得出，故一定为真。

由结论⑤可得出：有的动作片（S）⟹选择在节假日上映（P），选项＝动作片（S）➞没有选择在节假日上映（¬ P），与之构成矛盾关系，故 B 选项一定为假。

由结论⑤可得出：有的动作片（S）⟹高票房的电影（P），选项可换位＝有的动作片（S）⟹不是高票房的电影（¬ P），C 选项与之构成下反对关系，故无法判断真假。

由结论⑤可得出：有的动作片⟹选择在节假日上映的电影，可换位＝有的选择在节假日上映的电影（S）⟹动作片（P），选项＝有的选择在节假日上映的电影（S）⟹不是动作片（¬ P），D 选项与之构成下反对关系，故无法判断真假。

由结论⑤可得出：有的动作片（S）⟹选择在节假日上映的电影（P），选项＝有的动作片（S）⟹不是选择在节假日上映的电影（¬ P），E 选项与之构成下反对关系，故无法判断真假。

故选 B。

12.某学校新招了一批教师，有些新教师刚入职就当上了班主任。在本年度的年度考核中，所有湖南籍的教师都被评为优秀，所有班主任都没有被评为优秀。

如果上述断定为真，下列哪一项也必定为真？【C】

A.所有的新教师都不是湖南人。

B.有些新教师在本年度被评为优秀。

C.有些新教师不是湖南人。

D.并非所有湖南籍的教师都不是新教师。

E.有些班主任是湖南人。

【解析】

1.本题涉及知识点：

本题考查直言三段论模型。

前提：A➞B；有的 C⟹A。结论：有的 C⟹B。

例如：所有失去的都会以另一种方式归来，有的美好也会失去，因此，有的美好会以另一种方式归来。

2.技巧方法：

此类题的解题方法是通过根据题干给出的条件，将对应的条件符号化，再对应三段论模型，结合选项进行判断。

3.具体过程：

题干中出现了两个前提：所有的班主任都没有被评为优秀，有些新教师是班主任，据此进行三段论推理可以得出结论：有些新教师没有被评为优秀。将上述结论与题干前提的“所有湖南籍的员工都被评为优秀”进行三段论推理，可以得出结论：有些新教师不是潮南人。

故选 C。

13.在现如今多元化的社会中，每种不同的价值观都有其存在的意义和价值，我们应该怀着包容心去看待。对此，某学者认为：所有价值观都有其合理之处的文化，有的煽动性言论不受推崇，所有为人处世之道都是一种价值观。所以，有的煽动性言论不是为人处世之道。

以下哪项如果为真，最能支持该学者的观点？【D】

A.有的煽动性言论是为人处世之道。

B.不能设想有的为人处世之道没有其合理之处的文化。

C.有的价值观没有其合理之处。

D.没有一个有其合理之处的文化不受推崇。

E.所有有其合理之处的文化都是为人处世之道。

【解析】

1.本题涉及知识点：

本题考查直言三段论模型。

前提：A→B；有的C⟹¬ B。结论：有的C⟹¬ A。

例如：所有乐观的人都有进取心态，有的青年没有进取心态，因此，有的青年不是乐观的人。

2.技巧方法：

此类题的解题方法是通过根据题干给出的条件，将对应的条件符号化，再对应三段论模型，结合选项进行判断。

3.具体过程：

第一步，整理该学者的观点可得：

前提：①价值观→有其合理之处的文化；

②有的煽动性言论⟹不受推崇；

③为人处世之道→是一种价值观。

结论：④有的煽动性言论⟹不是为人处世之道。

第二步，联合①和③可得：⑤为人处世之道→是一种价值观→有其合理之处的文化。

第三步，根据直言判断综合推理的基本模型，重复的项“煽动性言论”左对齐，补“上推下”即可。

前提②：有的煽动性言论⟹不受推崇。

补前提⑥：不受推崇→不是为人处世之道＝为人处世之道→受推崇。

结论④：有的煽动性言论⟹不是为人处世之道。

第四步，观察选项，没有正确答案；此时需再联合⑤，得出⑥便是最直接的支持。

⑤为人处世之道→有其合理之处的文化。

补前提①：有其合理之处的文化→受推崇（答案D）。

⑥为人处世之道→受推崇。

故选D。

14.所有获得“长江学者”称号的老师都是具有博士学位的，所有获得“长江学者”称号的老师都是被学生喜爱的，有的从事高分子材料研究的老师是获得“长江学者”称号的老师，清北中学的老师都不具有博士学位。

如果以上断定为真，则以下除哪项外，均一定为真？【C】

A.有的从事高分子材料研究的老师是被学生喜爱的。

B.清北中学的老师都没有获得“长江学者”称号。

C.有的清北中学的老师是被学生喜欢的。

D.有的从事高分子材料研究的老师是具有博士学位的。

E.如果有人是获得“长江学者”称号的老师，那么他是具有博士学位的。

【解析】

1.本题涉及知识点：

本题考查直言三段论模型。

（1）前提：A→B；B→C。结论：A→C。

例如：所有MBA学生都是有工作经验的，所有有工作经验的人都是有实践能力的，因此，所有MBA学生都是有实践能力的。

（2）前提：A→B；有的C⟹A。结论：有的C⟹B。

例如：所有失去的都会以另一种方式归来，有的美好也会失去，因此，有的美好会以另一种方式归来。

（3）前提：A→B；有的C⟹¬ B。结论：有的C⟹¬ A。

例如：所有乐观的人都有进取心态，有的青年没有进取心态，因此，有的青年不是乐观的人。

2.技巧方法：

此类题的解题方法是通过根据题干给出的条件，将对应的条件符号化，再对应三段论模型，结合选项进行判断。

3.具体过程：

根据题干：①获得“长江学者”称号的老师→具有博士学位的；②获得“长江学者”称号的老师→被学生喜爱的；③有的从事高分子材料研究的老师⟹获得“长江学者”称号；④清北中学的老师→不具有博士学位。

A联合②和③得：有的从事高分子材料研究的老师→获得“长江学者”称号的老师⟹是被学生喜爱的，一定真。B联合①和④得：清北中学的老师→不具有博士学位→没有获得“长江学者”称号，一定真。C联合①和④得：⑤清北中学的老师→没有获得“长江学者”称号＝获得“长江学者”称号→非清北中学的老师。根据“所有”为真，可推出“有的”为真，进而可得：有的非清北中学的老师⟹获得“长江学者”称号。再联合②可得：有的非清北中学的老师⟹获得“长江学者”称号⟹被学生喜爱的。故选项无法判断真假。D联合①和③得：有的从事高分子材料研究的老师⟹获得“长江学者”称号的老师⟹是具有博士学位的，一定真。E选项＝获得“长江学者”称号的老师→具有博士学位，与条件①等价，一定真。

故选 C。

15.某大学就业中心对应届毕业生进行调查得出结论：不爱岗敬业的人不可能成为一名品德高尚的人，没有一个严于律己的人会成为不值得信赖的人，做事有头没尾的人均不值得信赖，但是有些做事有头没尾的人却是品德高尚的人。

以上陈述如果为真，则以下哪项必然为假？【D】

A.有些爱岗敬业的人不是严于律己的人。

B.严于律己的人不都是爱岗敬业的人。

C.严于律己的人都不是爱岗敬业的人。

D.爱岗敬业的人都是严于律己的人。

E.所有严于律己的人都是爱岗敬业的人。

【解析】

1.本题涉及知识点：

本题考查直言三段论模型。

（1）前提：A→B；B→C。结论：A→C。

例如：所有 MBA 学生都是有工作经验的，所有有工作经验的人都是有实践能力的，因此，所有 MBA 学生都是有实践能力的。

（2）前提：A→B；有的 C⟹A。结论：有的 C⟹B。

例如：所有失去的都会以另一种方式归来，有的美好也会失去，因此，有的美好会以另一种方式归来。

（3）前提：A→B；有的 C⟹¬ B。结论：有的 C⟹¬ A。

例如：所有乐观的人都有进取心态，有的青年没有进取心态，因此，有的青年不是乐观的人。

2.技巧方法：

此类题的解题方法是通过根据题干给出的条件，将对应的条件符号化，再对应三段论模型，结合选项进行判断。

3.具体过程：

根据题干：①不爱岗敬业的人→不是一名品德高尚的人＝品德高尚的人→爱岗敬业的人；②严于律己的人→值得信赖的人；③做事有头没尾的人→不值得信赖的人；④有的做事有头没尾⟹品德高尚的人。第一步，寻找重复的项，构成首尾相连。联合②和③得：⑤严于律己的人→值得信赖的人→做事不是有头没尾的人。联合①和④得：⑥有的做事有头没尾⟹品德高尚的人⟹爱岗敬业的人。第二步，根据选项需要找题干信息中“爱岗敬业”和“严于律己”的关系；以“做事有头没尾”为重复的中项，联合⑤（需先逆否）和⑥（需换位）得：有的爱岗敬业的人⟹品德高尚的人⟹做事有头没尾⟹不值得信赖的人⟹不是严于律己的人。第三步，“一定假”，也就是要寻找矛盾的选项。

故选 D。

16.高校 2007 年秋季入学的学生中有些是免费师范生。所有的免费师范生都是家境贫寒的。凡是家境贫寒的学生都参加了勤工助学活动。

如果以上陈述为真，则以下各项必然为真，除了：【D】

A.2007 年秋季入学的学生中有人家境贫寒。

B.没有参加勤工助学活动的学生都不是免费师范生。

C.有些参加勤工助学活动的学生是 2007 年秋季入学的。

D.有些参加勤工助学活动的学生不是免费师范生。

E.有些家境不贫寒的学生不是免费师范生。

【解析】

1.本题涉及知识点：

本题考查直言三段论模型。

（1）前提：A→B；B→C。结论：A→C。

例如：所有 MBA 学生都是有工作经验的，所有有工作经验的人都是有实践能力的，因此，所有 MBA 学生都是有实践能力的。

（2）前提：A→B；有的 C⟹A。结论：有的 C⟹B。

例如：所有失去的都会以另一种方式归来，有的美好也会失去，因此，有的美好会以另一种方式归来。

（3）前提：A→B；有的 C⟹¬ B。结论：有的 C⟹¬ A。

例如：所有乐观的人都有进取心态，有的青年没有进取心态，因此，有的青年不是乐观的人。

2.技巧方法：

此类题的解题方法是通过根据题干给出的条件，将对应的条件符号化，再对应三段论模型，结合选项进行判断。

3.具体过程：

题干信息：①有些秋季→免费；②免费→贫寒；③贫寒→助学。结合①②③可得：④有些秋季→免费→贫寒→助学。

A 选项：有些秋季→贫寒，符合④，必然为真。

B 选项：¬助学→¬免费＝免费→助学，符合④，必然为真。

C 选项：有些助学⟹秋季＝有些秋季⟹助学，符合④，必然为真。

D 选项：有些助学⟹¬免费，不符合④，不必然为真。

E 选项：有些¬贫寒⟹¬免费，由④可知，免费→贫寒＝ ¬贫寒→¬免费，“所有”为真可推出“有些”为真，所以该项必然为真。

故选 D。

17.学年末，某中学初一年级进行了学年评定，有些学生干部当上了区三好学生，有些学生入了团。在推选共青团员的活动中，所有校三好学生都递交了入团申请，所有区三好学生都没有

写入团申请。

如果以上断定为真，则以下哪项也必定为真？【D】

A.所有学生干部都是三好学生。

B.有些学生干部递交了入团申请。

C.所有团员都是校三好学生。

D.有些学生不是校三好学生。

E.并非所有校三好学生都是学生干部。

【解析】

1.本题涉及知识点：

本题考查直言三段论模型。

（1）前提：A→B；B→C。结论：A→C。

例如：所有 MBA 学生都是有工作经验的，所有有工作经验的人都是有实践能力的，因此，所有 MBA 学生都是有实践能力的。

（2）前提：A→B；有的 C⟹A。结论：有的 C⟹B。

例如：所有失去的都会以另一种方式归来，有的美好也会失去，因此，有的美好会以另一种方式归来。

（3）前提：A→B；有的 C⟹¬ B。结论：有的 C⟹¬ A。

例如：所有乐观的人都有进取心态，有的青年没有进取心态，因此，有的青年不是乐观的人。

2.技巧方法：

此类题的解题方法是通过根据题干给出的条件，将对应的条件符号化，再对应三段论模型，结合选项进行判断。

3.具体过程：

题干信息：①有些学生干部⟹区三好；②有些学生⟹入团：③校三好→申请；④区三好→¬申请。结合①④③可得：⑤有些学生干部⟹区三好⟹¬申请⟹¬校三好。D 选项：有些学生⟹¬校三好，符合⑤，正确。

故选 D。

18.在某住宅小区的居民中，有的中老年教员都办了人寿保险，所有买了四居室以上住房的居民都办了财产保险，而所有办了人寿保险的都没办理财产保险。

如果上述断定是真的，则以下哪项关于该小区居民的断定必定是真的？【C】

Ⅰ.有中老年教员买了四居室以上的住房。

Ⅱ.有中老年教员没办理财产保险。

Ⅲ.买了四居室以上住房的居民都没办理人寿保险。

A.Ⅰ、Ⅱ和Ⅲ。

B.仅Ⅰ和Ⅱ。

C.仅Ⅱ和Ⅲ。

D.仅Ⅱ。

E.仅Ⅲ。

【解析】

1.本题涉及知识点：

本题考查直言三段论模型。

（1）前提：A→B；B→C。结论：A→C。

例如：所有MBA学生都是有工作经验的，所有有工作经验的人都是有实践能力的，因此，所有MBA学生都是有实践能力的。

（2）前提：A→B；有的C⟹A。结论：有的C⟹B。

例如：所有失去的都会以另一种方式归来，有的美好也会失去，因此，有的美好会以另一种方式归来。

（3）前提：A→B；有的C⟹¬ B。结论：有的C⟹¬ A。

例如：所有乐观的人都有进取心态，有的青年没有进取心态，因此，有的青年不是乐观的人。

2.技巧方法：

此类题的解题方法是通过根据题干给出的条件，将对应的条件符号化，再对应三段论模型，结合选项进行判断。

3.具体过程：

题干信息：①有的教员⟹人寿；②四居室→财产；③人寿→¬财产。结合①③②可得：④有的教员⟹人寿⟹¬财产⟹¬四居室。

复选项Ⅰ：有的教员⟹四居室，由④可知，有的教员没买四居室以上住房，“有的”的数量范围为“1～全部”，所以无法判断是否有的教员买了四居室以上住房，该项真假不确定。

复选项Ⅱ：有的教员⟹¬财产，符合④，一定为真。

复选项Ⅲ：四居室→¬人寿＝人寿→¬四居室，符合④，选项一定为真。

故选C。

19.某学者在第一届“英才计划”论坛上做了发言，他讲到：任何的享乐主义思想都不是指导幸福生活的风向标，但享乐主义者不都应该受到挖苦，所有值得大力推崇的价值观或人生观都是指导幸福生活的风向标，但并不是每一个指导幸福生活的风向标都是值得大力推崇的。

根据以上陈述，以下哪项是不可能的？【D】

A.所有受到挖苦的人都没有指导幸福生活的风向标。

B.所有的享乐主义者都受到了挖苦。

C.没有一个享乐主义思想是值得大力推崇的。

D.有些值得大力推崇的是享乐主义思想。

E.有些值得大力推崇的指导幸福生活的风向标并没有被大力推崇。

【解析】

1.本题涉及知识点：

本题考查直言三段论模型。

（1）前提：A→B；B→C。结论：A→C。

例如：所有 MBA 学生都是有工作经验的，所有有工作经验的人都是有实践能力的，因此，所有 MBA 学生都是有实践能力的。

（2）前提：A→B；有的 C⟹A。结论：有的 C⟹B。

例如：所有失去的都会以另一种方式归来，有的美好也会失去，因此，有的美好会以另一种方式归来。

（3）前提：A→B；有的 C⟹¬ B。结论：有的 C⟹¬ A。

例如：所有乐观的人都有进取心态，有的青年没有进取心态，因此，有的青年不是乐观的人。

2.技巧方法：

此类题的解题方法是通过根据题干给出的条件，将对应的条件符号化，再对应三段论模型，结合选项进行判断。

3.具体过程：

根据题干：①享乐主义思想→不是指导幸福生活的风向标；②有的享乐主义者⟹不应该受到挖苦；③值得大力推崇的价值观∨人生观→指导幸福生活的风向标④有的指导幸福生活的风向标⟹不值得大力推崇。联合①和④可得：⑤有的不值得大力推崇⟹指导幸福生活的风向标⟹不是享乐主义思想。联合①和③可得：⑥值得大力推崇的价值观∨人生观→指导幸福生活的风向标→不是享乐主义思想。“以下哪项是不可能的？”＝“一定假”。A 选项＝受到挖苦的人→没有指导幸福生活的风向标；②可换位不可逆否；因此，无法判断。B 选项＝享乐主义者→受到了挖苦；看似与②矛盾，但题干是“应该受到挖苦”不等于“受到挖苦”，注意此处偷换概念是考试易错点。C 选项＝享乐主义者→不值得大力推崇；与⑤不矛盾，因此，无法判断真假。D 选项＝有些值得大力推崇的⟹享乐主义思想，与⑥矛盾，故一定为假。E 项“有没有被大力推崇”和“值不值得大力推崇”显然是不同的概念。

故选 D。

20.凡保障群众基本生活需要的项目均投入超过 1000 万元，一切政府核心的项目或者保障群众基本生活需要或者保障群众就业发展，但是有些政府核心的项目投入没有超过 1000 万元。

根据以上陈述，可以得出以下哪项？【B】

A.保障群众基本生活需要的项目可以保障群众就业发展。

B.有些项目尽管保障群众就业发展但没有保障群众基本生活需要。

C.投入超过 1000 万元的项目有些没有保障群众就业发展。

D.有些项目保障群众基本生活需要但是不能保障群众就业发展。

E.有些投入没超过 1000 万元的项目也能保障群众基本生活需要。

【解析】1.本题涉及知识点：

本题考查直言三段论模型。

（1）前提：A→B；B→C。结论：A→C。

例如：所有 MBA 学生都是有工作经验的，所有有工作经验的人都是有实践能力的，因此，所有 MBA 学生都是有实践能力的。

（2）前提：A→B；有的 C⟹A。结论：有的 C⟹B。

例如：所有失去的都会以另一种方式归来，有的美好也会失去，因此，有的美好会以另一种方式归来。

（3）前提：A→B；有的 C⟹¬ B。结论：有的 C⟹¬ A。

例如：所有乐观的人都有进取心态，有的青年没有进取心态，因此，有的青年不是乐观的人。

2.技巧方法：

此类题的解题方法是通过根据题干给出的条件，将对应的条件符号化，再对应三段论模型，结合选项进行判断。

3.具体过程：

题干信息：①保障群众基本生活需要的项目→投入超过 1000 万元；②政府核心的项目→保障群众基本生活需要∨保障群众就业发展；③有的政府核心的项目⟹投入没有超过 1000 万元。第一步，联合①和③可得：④有的政府核心的项目⟹投入没有超过 1000 万元⟹没有保障群众基本生活需要。第二步，信息②＝不是政府核心的项目∨保障群众基本生活需要∨保障群众就业发展；联合②和④可得：有的政府核心的项目⟹投入没有超过 1000 万元⟹没有保障群众基本生活需要⟹保障群众就业发展。第三步，根据“有的”只能换位，不能逆否的原则，可快速判断出答案为 B。而 A、C、D、E 选项均无法判断。

故选 B。

排列组合

1.一个旅行者要去火车站，早上从旅馆出发，到达一个十字路口。十字路口分别通向东南西北四个方向，四个方向上分别有饭店、旅馆、书店和火车站。书店在饭店的东北方，饭店在火车站的西北方。

该旅行者要去火车站，应当往哪个方向走？【B】

A.东。

B.南。

C.西。

D.北。

E.朝哪个方向走都可以，条条大路通罗马。

【解析】

1.本题涉及知识点：

本题考查分析推理的列表法和图示法。这两种方法往往在“排序问题”和“分组问题”中能够将题干中的条件图形化，以方便我们进一步的分析。

2.技巧方法：

此类题的解题方法是通过根据题干给出的条件：

（1）列表法：常常用于分类、匹配问题

（2）图示法：常常用于有关排序、方位的问题

3.具体过程：

题干信息：已知饭店、旅馆、书店、火车站分别位于东南西北四个方向上，由“书店在饭店的东北方”可知，书店位于北方、饭店位于西方或者书店位于东方、饭店位于南方。由“饭店在火车站的西北方”可知，书店在北方，饭店在西方，则火车站位于南方。故选B。

2.在某公司的招聘会上，公司行政部门、人力资源部和办公室拟各招聘一名工作人员，来自中文系、历史系和哲学系的三名毕业生前来应聘这三个不同的职位。招聘信息显示，历史系毕业生比应聘办公室的年龄大，哲学系毕业生和应聘人力资源部的着装颜色相近，应聘人力资源部的比中文系毕业生年龄小。

根据以上陈述，可以得出以下哪项？【B】

A.哲学系毕业生比历史系毕业生年龄大。

B.中文系毕业生比哲学系毕业生年龄大。

C.历史系毕业生应聘行政部。

D.中文系毕业生应聘办公室。

E.应聘办公室的比应聘行政部的年龄大。

【解析】

1.本题涉及知识点：

本题考查分析推理的列表法和图示法。这两种方法往往在“排序问题”和“分组问题”中能够将题干中的条件图形化，以方便我们进一步的分析。

2.技巧方法：

此类题的解题方法是通过根据题干给出的条件：

（1）列表法：常常用于分类、匹配问题

（2）图示法：常常用于有关排序、方位的问题

3.具体过程：

毕业院系	部门名称		
	人力资源	办公室	行政部
历史系	√	×	
中文系	×	×	√
哲学系	×	√	

由题意可知：中文系＞历史系＞哲学系。故选B。

3.夏雨、夏雪和夏阳三个同学一起出去郊游，为了照相方便，每个人拿的是同学的相机，背着另一个同学的背包。

如果背着夏阳背包的人拿着夏雪的相机，那么以下哪项一定为真？【A】

A.夏雪拿着夏阳的相机。

B.夏雨拿着夏阳的相机。

C.夏阳背着夏雨的背包。

D.夏雪背着夏阳的背包。

E.夏雨背着夏雪的背包。

【解析】

1.本题涉及知识点：

本题考查分析推理的列表法和图示法。这两种方法往往在“排序问题”和“分组问题”中能够将题干中的条件图形化，以方便我们进一步的分析。

2.技巧方法：

此类题的解题方法是通过根据题干给出的条件：

（1）列表法：常常用于分类、匹配问题

（2）图示法：常常用于有关排序、方位的问题

3.具体过程：

①由题干信息“每个人拿的是同学的相机，背着另一个同学的背包”，以及“背着夏阳背包的人拿着夏雪的相机”可知，此人是夏雨。②由“夏雨拿着夏雪的相机，并且三人都不拿自己的

相机”可知，夏雪拿着夏阳的相机，夏阳拿着夏雨的相机。③由“夏雨背着夏阳的背包，并且三人都不背自己的背包”可知，夏阳背着夏雪的背包，夏雪背着夏雨的背包。列表如下：

	夏雨	夏雪	夏阳
相机	夏雪①	夏阳②	夏雨②
背包	夏阳①	夏雨③	夏雪③

故选 A。

4.甲、乙、丙、丁四人分别到航天博物馆、历史博物馆、乐器博物馆和军事博物馆去参观，已知：航天博物馆周二不对外接待，历史博物馆周三不对外接待，乐器博物馆周四不对外接待，军事博物馆只有周三、周五开放，周一四个单位均休息。某天，甲说：“我要去的博物馆这两天都闭馆，明天才能去。”乙说：“我也要明天去，因为后天不能去。”丙说：“我和甲的情况正好相反，我明天去了没用，今天去倒是开的。”丁说：“我从明天开始，连续五天随便哪天都可以去。”

根据以上信息，乙去的博物馆是以下哪项？【C】

A.航天博物馆。

B.历史博物馆。

C.乐器博物馆。

D.军事博物馆。

E.无法确定。

【解析】

1.本题涉及知识点：

本题考查分析推理的列表法和图示法。这两种方法往往在“排序问题”和“分组问题”中能够将题干中的条件图形化，以方便我们进一步的分析。

2.技巧方法：

此类题的解题方法是通过根据题干给出的条件：

（1）列表法：常常用于分类、匹配问题

（2）图示法：常常用于有关排序、方位的问题

3.具体过程：

题干信息：

星期 博物馆	一	二	三	四	五	六	日
航天	×	×					
历史	×		×				
乐器	×			×			
军事	×	×		×		×	×

由丁的话可知，丁去的是航天博物馆，今天是周二；结合甲的话可知，甲去的是军事博物馆；再结合乙的话可知，乙去的是乐器博物馆。故选 C。

5.甲、乙、丙均为教师，其中一位是大学教师，一位是中学教师，一位是小学教师。并且大学教师比甲的学历高，乙的学历与小学教师不同，小学教师的学历比丙的高。

由此可以推出：【E】

A.甲是中学教师，乙是大学教师，丙是小学教师。

B.甲是中学教师，乙是小学教师，丙是大学教师。

C.甲是大学教师，乙是小学教师，丙是中学教师。

D.甲是大学教师，乙是中学教师，丙是小学教师。

E.甲是小学教师，乙是大学教师，丙是中学教师。

【解析】

1.本题涉及知识点：

本题考查分析推理的列表法和图示法。这两种方法往往在“排序问题”和“分组问题”中能够将题干中的条件图形化，以方便我们进一步的分析。

2.技巧方法：

此类题的解题方法是通过根据题干给出的条件：

（1）列表法：常常用于分类、匹配问题

（2）图示法：常常用于有关排序、方位的问题

3.具体过程：

根据题干信息可知：甲不是大学教师，排除 C、D 两项；乙不是小学教师，排除 B 选项，丙不是小学教师，排除 A 选项。故选 E。

6.孙大宝、孟大宝和江大宝住在相邻的公寓里。孟大宝住在中间。她们的职业分别是化学家、医生和电台播音员（不一定是这个顺序）。此外：

（1）当江大宝外出时，电台播音员带着她的狗去散步；

（2）当孙大宝的立体声音乐太响时，化学家就敲她套房的墙。

那么孙大宝、孟大宝和江大宝依次是什么职业？【C】

A.化学家、播音员和医生。

B.化学家、医生和播音员。

C.播音员、化学家和医生。

D.播音员、医生和化学家。

E.医生、化学家和播音员。

【解析】

1.本题涉及知识点：

本题考查分析推理的列表法和图示法。这两种方法往往在“排序问题”和“分组问题”中能够将题干中的条件图形化，以方便我们进一步的分析。

2.技巧方法：

此类题的解题方法是通过根据题干给出的条件：

（1）列表法：常常用于分类、匹配问题

（2）图示法：常常用于有关排序、方位的问题

3.具体过程：

由于孟大宝住在公寓中间，所以孙大宝和江大宝不是邻居。根据（2）可知，当孙大宝的立体声音乐太响时，敲她套房的墙的一定不是江大宝，而是孟大宝，所以孟大宝是化学家。根据（1）可知，江大宝不是电台播音员，所以江大宝是医生。于是孙大宝就只能是电台播音员了。故选C。

7.赵、钱、孙、李四个人中既有大人也有小孩。给他们称体重时，赵、钱两人的体重几乎等于孙、李两人的体重；将钱、李对换一下，赵、李两人的体重明显大于孙、钱两人的体重，并且赵、孙两人的体重还小于钱的体重。

根据题干信息，下面哪项是赵、钱、孙、李的体重的正确排序（由重至轻）？【A】

A.李、钱、赵、孙。

B.李、钱、孙、赵。

C.钱、孙、李、赵。

D.钱、赵、李、孙。

E.李、赵、钱、孙。

【解析】

1.本题涉及知识点：

本题考查分析推理的列表法和图示法。这两种方法往往在“排序问题”和“分组问题”中能够将题干中的条件图形化，以方便我们进一步的分析。

2.技巧方法：

此类题的解题方法是通过根据题干给出的条件：

（1）列表法：常常用于分类、匹配问题

（2）图示法：常常用于有关排序、方位的问题

3.具体过程：

题干信息：①赵＋钱＝孙＋李；②赵＋李＞孙＋钱；（3）钱＞赵＋孙。由①排除B、D两项；由②排除C选项；由③排除E选项。故选A。

8.严翔、孟轩和姜洋三个同学在议论刚参加完的高考。严翔很有把握地说：“我肯定能考上重点大学。”孟轩犹豫了一下才说：“重点大学我是考不上了。”姜洋说：“要是不论重点或不

重点，我考上是没有问题的。”结果表明：三人中一人考上了重点大学，一人考上了一般大学，另一人则没考上大学，而且预言中只有一个人说对了，另外两人的预言都与事实相反。

如果上述情况属实，那么考上重点大学、考上一般大学和没考上大学的名单的顺序是：【C】

A.严翔、姜洋和孟轩。

B.严翔、孟轩和姜洋。

C.孟轩、姜洋和严翔。

D.孟轩、严翔和姜洋。

E.姜洋、孟轩和严翔。

【解析】

1.本题涉及知识点：

本题考查分析推理的列表法和图示法。这两种方法往往在“排序问题”和“分组问题”中能够将题干中的条件图形化，以方便我们进一步的分析。

2.技巧方法：

此类题的解题方法是通过根据题干给出的条件：

（1）列表法：常常用于分类、匹配问题

（2）图示法：常常用于有关排序、方位的问题

3.具体过程：

①假设严翔的预言对，那么根据题意可推出孟轩的预言不对，于是严翔和孟轩都考上了重点大学。但是这不符合题意，所以严翔的预言不对。②假设孟轩的预言对，那么根据题意可推出严翔和姜洋的预言都不对，于是严翔和孟轩都没有考上重点大学而且姜洋没有考上大学。这时，就没有人考上重点大学了，但是这不符合题意，所以孟轩的预言不对。由①和②再根据题意可推出，姜洋的预言是对的。由孟轩的预言不对可推出，孟轩考上了重点大学。由姜洋的预言对可推出，姜洋考上了大学。因为孟轩考上了重点大学，所以姜洋考上的是一般大学。这样，严翔没有考上大学。故选 C。

9.六个人排队，排队顺序如下：

（1）小孙没有排在最后，而且他和最后一个人之间还有两个人；

（2）小吴不是最后一个人，在小王的前面至少还有四个人，但他没有排在最后；

（3）小李没有排在第一位，但他前后至少都有两个人；

（4）小赵没有排在最前面，也没有排在最后。

请问：他们六个人的前后顺序是怎么排的？【B】

A.小赵，小吴，小孙，小李，小王，小张。

B.小吴，小赵，小孙，小李，小王，小张。

C.小孙，小李，小赵，小王，小吴，小张。

D.小李，小张，小赵，小王，小吴，小孙。

E.小李，小王，小吴，小赵，小孙，小张。

【解析】

1.本题涉及知识点：

本题考查分析推理的列表法和图示法。这两种方法往往在“排序问题”和“分组问题”中能够将题干中的条件图形化，以方便我们进一步的分析。

2.技巧方法：

此类题的解题方法是通过根据题干给出的条件：

（1）列表法：常常用于分类、匹配问题

（2）图示法：常常用于有关排序、方位的问题

3.具体过程：

由条件（1）可知，小孙排在第三位，排除 C、D、E 三项。由条件（2）可知，小王排在第五位。由条件（3）可知，小李排在第四位。由条件（4）可知，小赵没有排在第一位和第六位，排除 A 选项。故选 B。

10.教练在甲、乙、丙三人背上分别贴了三个数字，三人都能看到对方的数字，但是看不到自己的数字，甲、乙、丙背上的数字分别用 A、B、C 代替。甲说：B＞C；乙说：A＜C；丙说：A＜B；教练说：你们之中最多有一个人说了假话。

假如教练说的是假话，则甲、乙、丙背上的数字大小顺序可能是：【A】

A.A＞B＞C。

B.C＞B＞A。

C.B＞C＞A。

D.B＞A＞C。

E.B＝C＞A。

【解析】

1.本题涉及知识点：

本题考查分析推理的列表法和图示法。这两种方法往往在“排序问题”和“分组问题”中能够将题干中的条件图形化，以方便我们进一步的分析。

2.技巧方法：

此类题的解题方法是通过根据题干给出的条件：

（1）列表法：常常用于分类、匹配问题

（2）图示法：常常用于有关排序、方位的问题

3.具体过程：

教练说：“最多一人说假话。”而教练所说为假，因此可知：不是最多一个人说假话，即至少有两个人说假话。代入选项进行验证：

A 选项：甲是真的，乙是假的，丙是假的，两假一真，符合题干条件。B 选项：甲是假的，乙

是真的，丙是真的，两真一假，排除。C 选项：甲是真的，乙是真的，丙是真的，三真零假，排除。D 选项：甲是真的，乙是假的，丙是真的，两真一假，排除。E 选项：甲是假的，乙是真的，丙是真的，两真一假，排除。故选 A。

11.五名幼儿园的小朋友围坐成一圈玩游戏。已知：小红不坐在小兰和小白旁边；小白坐在小敏旁边；小兰坐在小杉旁边。

如果上述陈述属实，可以确定以下哪项？【B】

Ⅰ.小红坐在小杉和小敏的中间。

Ⅱ.小兰坐在小杉和小白的中间。

Ⅲ.小白坐在小杉的旁边。

Ⅳ.小敏坐在小白和小兰的中间。

A.Ⅱ和Ⅳ不是真的。

B.Ⅰ和Ⅱ是真的。

C.Ⅱ和Ⅲ是真的。

D.Ⅱ和Ⅲ不是真的。

E.Ⅰ、Ⅱ、Ⅲ、Ⅳ都不是真的。

【解析】

1.本题涉及知识点：

本题考查分析推理的列表法和图示法。这两种方法往往在“排序问题”和“分组问题”中能够将题干中的条件图形化，以方便我们进一步的分析。

2.技巧方法：

此类题的解题方法是通过根据题干给出的条件：

（1）列表法：常常用于分类、匹配问题

（2）图示法：常常用于有关排序、方位的问题

3.具体过程：

由“小红不坐在小兰和小白旁边；小白坐在小敏旁边；小兰坐在小杉旁边”可知，这五名幼儿园小朋友的顺序，有可能存在两种情况：第一种情况为，按照小白、小敏、小红、小杉、小兰的顺序围成一圈；第二种情况为，按照小敏、小白、小兰、小杉、小红的顺序围成一圈。由上述两种顺序可得：复选项Ⅰ和复选项Ⅱ一定是真的，复选项Ⅲ和复选项Ⅳ一定是假的。故选 B。

12.某部从 1、2、3 班各抽一名战士举行军事技术比赛。比赛结束后得知：战士甲的成绩比 2 班战士的成绩好；3 班战士的成绩比战士乙的成绩差；战士丙称赞 3 班战士比自己成绩好。

据此，可以推出甲、乙、丙 3 位战士的成绩按从高到低依次排列为：【D】

A.甲、乙、丙。

B.乙、丙、甲。

C.丙、甲、乙。

D.乙、甲、丙。

E.甲、丙、乙。

【解析】

1.本题涉及知识点：

本题考查分析推理的列表法和图示法。这两种方法往往在“排序问题”和“分组问题”中能够将题干中的条件图形化，以方便我们进一步的分析。

2.技巧方法：

此类题的解题方法是通过根据题干给出的条件：

（1）列表法：常常用于分类、匹配问题

（2）图示法：常常用于有关排序、方位的问题

3.具体过程：

题干信息：①甲＞2 班；②乙＞3 班；③3 班＞丙。由条件②和③可知，3 班战士既不是乙也不是丙，所以甲是 3 班战士。于是可知，三者的顺序为：乙＞甲＞丙。故选 D。

13.在夏夜星空的某一区域，有 7 颗明亮的星星：A 星、B 星、C 星、D 星、E 星、F 星、G 星。它们由北至南排列成一条直线，同时发现：

（1）C 星与 E 星相邻；

（2）B 星和 F 星相邻；

（3）F 星与 C 星相邻；

（4）G 星与位于最南侧的那颗星相邻；

（5）F 星在 E 星的北侧和 A 星的南侧。

可以推出位于正中的星星是：【B】

A.B 星。

B.C 星。

C.D 星。

D.E 星。

E.F 星。

【解析】

1.本题涉及知识点：

本题考查分析推理的列表法和图示法。这两种方法往往在“排序问题”和“分组问题”中能够将题干中的条件图形化，以方便我们进一步的分析。

2.技巧方法：

此类题的解题方法是通过根据题干给出的条件：

（1）列表法：常常用于分类、匹配问题

（2）图示法：常常用于有关排序、方位的问题

3.具体过程：

由（1）（2）（3）（5）结合可知，由北向南相邻的顺序应为：ABFCE。结合（4）可得完整的顺序为：ABFCEGD。故选 B。

14.小周、小吴、小郑、小王四人的职业是舞蹈演员、护士、教师和服装设计师。还知道：小周比护士的工资高，小郑比小吴的工资低，舞蹈演员比服装设计师的工资低，教师比护士的工资低，服装设计师不是小郑就是小王。

根据上述陈述，可知下述哪项为真？【A】

A.四个人的职业都能确定。

B.四人中有三个人的职业能确定。

C.四人中有两个人的职业能确定。

D.四个人的职业都不能确定。

E.以上答案都不对。

【解析】

1.本题涉及知识点：

本题考查分析推理的列表法和图示法。这两种方法往往在“排序问题”和“分组问题”中能够将题干中的条件图形化，以方便我们进一步的分析。

2.技巧方法：

此类题的解题方法是通过根据题干给出的条件：

（1）列表法：常常用于分类、匹配问题

（2）图示法：常常用于有关排序、方位的问题

3.具体过程：

题干信息：①小周＞护士；②小吴＞小郑；③设计师＞舞蹈演员；④护士＞教师；⑤设计师不是小周和小吴。由条件①和④可知，小周不是护士，也不是教师；结合⑤可得，小周是舞蹈演员。四人职业按照工资高低排序结果为：设计师＞舞蹈演员＞护士＞教师。由条件②和⑤可知，设计师不是小郑、小周和小吴，所以设计师是小王。于是四人的职业为：小王是设计师，小周是舞蹈演员，小吴是护士，小郑是教师。故选 A。

15.甲、乙、丙、丁是四位天资极高的艺术家，他们分别是舞蹈家、画家、歌唱家和作家，尚不能确定其中每个人所从事的专业领域，已知：

（1）有一天晚上，甲和丙出席了歌唱家的首次演出；

（2）画家曾为乙和作家两个人画过肖像；

（3）作家正准备写一本甲的传记，他所写的丁传记是畅销书；

（4）甲从来没有见过丙。

下面哪一选项正确地描述了每个人的身份？【B】

A.甲是歌唱家，乙是作家，丙是画家，丁是舞蹈家。

B.甲是舞蹈家，乙是歌唱家，丙是作家，丁是画家。

C.甲是画家，乙是作家，丙是歌唱家，丁是作家。

D.甲是作家，乙是画家，丙是舞蹈家，丁是歌唱家。

E.甲是作家，乙是歌唱家，丙是画家，丁是舞蹈家。

【解析】

1.本题涉及知识点：

本题考查分析推理的列表法和图示法。这两种方法往往在“排序问题”和“分组问题”中能够将题干中的条件图形化，以方便我们进一步的分析。

2.技巧方法：

此类题的解题方法是通过根据题干给出的条件：

（1）列表法：常常用于分类、匹配问题

（2）图示法：常常用于有关排序、方位的问题

3.具体过程：

由（1）可知，甲和丙均不是歌唱家，排除 A、C 两项。由（2）可知，乙既不是作家也不是画家，排除 D 选项。由（3）可知，甲和丁均不是作家，排除 E 选项。故选 B。

16.王五、张三、李四三人是来自公安局、检察院、法院的工作人员。

下列说法中只有一个是对的：

（1）王五是公安局的；

（2）张三不是公安局的；

（3）李四不是法院的。

王五、张三、李四分别是哪个单位的工作人员？【A】

A.王五是法院的，张三是公安局的，李四是检察院的。

B.王五是检察院的，张三是公安局的，李四是法院的。

C.王五是公安局的，张三是法院的，李四是检察院的。

D.王五是检察院的，张三是法院的，李四是公安局的。

E.王五是公安局的，张三是检察院的，李四是法院的。

【解析】

1.本题涉及知识点：

本题考查分析推理的列表法和图示法。这两种方法往往在“排序问题”和“分组问题”中能够将题干中的条件图形化，以方便我们进一步的分析。

2.技巧方法：

此类题的解题方法是通过根据题干给出的条件：

（1）列表法：常常用于分类、匹配问题

（2）图示法：常常用于有关排序、方位的问题

3.具体过程：

本题需进行职业匹配，题干信息真假不确定，且知道一真两假，故用选项代入法去解题。A 选项：（1）错、（2）错、（3）对，符合题意。B 选项：三个说法全错，不符合题意，排除。C 选项：三个说法全对，不符合题意，排除。D 选项：（1）错、（2）对、（3）对，不符合题意，排除。E 选项：（1）对、（2）对、（3）错，不符合题意，排除。故选 A。

17.高校食堂某窗口前有张明、李伟、王刚、赵曼、钱强 5 人在排队买菜。每人只买一份菜。已知：

（1）要买红烧肉的人排在张明的后面；

（2）李伟紧排在要买芹菜炒香干的人的前面；

（3）王刚虽然排在队伍的第 2 位，但他还不知道要买什么；

（4）赵曼一向吃素，今天她来得有点晚，排在了队伍的最后。

由此可以推出：【C】

A.李伟排在队伍的正中间位置。

B.钱强排在队伍的正中间位置。

C.李伟不可能排在队伍的最前面。

D.张明排在队伍的最前面。

E.赵曼排在队伍的倒数第四位。

【解析】

1.本题涉及知识点：

本题考查分析推理的列表法和图示法。这两种方法往往在“排序问题”和“分组问题”中能够将题干中的条件图形化，以方便我们进一步的分析。

2.技巧方法：

此类题的解题方法是通过根据题干给出的条件：

（1）列表法：常常用于分类、匹配问题

（2）图示法：常常用于有关排序、方位的问题

3.具体过程：

由（2）和（3）结合可知，王刚在第 2 位，李伟不可能排在王刚的前面，也就是不可能排在队伍的最前面。故选 C。

18.六一儿童节，可爱班的 6 个小朋友围坐在一圈玩丢手绢的游戏。已知：

（1）刘悦看见昂熙和辰子已经做了邻居；

（2）昂熙不和云天相邻；

（3）辰子和子辰是双胞胎，他俩必须相邻；

（4）如果子辰和允晨没有相邻，那么昂熙和辰子也不会相邻。

根据以上陈述，当游戏开始时，以下哪项一定为真？【E】

A.昂熙和辰子相邻，允晨和刘悦相邻。

B.辰子和子辰相邻，辰子和云天相邻。

C.刘悦和辰子相邻，允晨和子辰相邻。

D.子辰和云天相邻，刘悦和允晨相邻。

E.辰子和子辰相邻，昂熙和刘悦相邻。

【解析】

1.本题涉及知识点：

本题考查分析推理的列表法和图示法。这两种方法往往在“排序问题”和“分组问题”中能够将题干中的条件图形化，以方便我们进一步的分析。

2.技巧方法：

此类题的解题方法是通过根据题干给出的条件：

（1）列表法：常常用于分类、匹配问题

（2）图示法：常常用于有关排序、方位的问题

3.具体过程：

题干信息：由条件（3）和（1）可知，昂熙和辰子相邻，子辰和辰子相邻；再由条件（4）可知，昂熙、辰子、子辰、允晨依次相邻；这时结合条件（2）可知，昂熙与刘悦相邻，刘悦与云天相邻，云天与允晨相邻，形成完整的一圈。故选E。

19.有四个外表看起来没有任何分别的小球，它们的重量可能有所不同。取一个天平，将甲、乙归为一组，丙、丁归为另一组分别放在天平的两边，天平是基本平衡的。将乙和丁对调一下，甲、丁一边明显地要比乙、丙一边重得多。可奇怪的是，我们在天平一边放上甲、丙，而另一边刚放上乙，还没有来得及放上丁，天平就压向了乙一边。

请你判断，这四个球中由重到轻的顺序是什么？【A】

A.丁、乙、甲、丙。

B.丁、乙、丙、甲。

C.乙、丙、丁、甲。

D.乙、甲、丁、丙。

E.乙、丁、甲、丙。

【解析】

1.本题涉及知识点：

本题考查分析推理的列表法和图示法。这两种方法往往在“排序问题”和“分组问题”中能够将题干中的条件图形化，以方便我们进一步的分析。

2.技巧方法：

此类题的解题方法是通过根据题干给出的条件：

（1）列表法：常常用于分类、匹配问题

（2）图示法：常常用于有关排序、方位的问题

3.具体过程：

题干信息：①甲＋乙＝丙＋丁；②丙＋乙＜甲＋丁；（3）甲＋丙＜乙。由①，排除 B、D、E 三项。由②，排除 C 选项。故选 A。

20.一场马术表演中共有七个障碍物：一个鸡笼、一扇障碍门、两面石墙以及三道栅栏。这七个障碍物从 1 到 7 被连续编号，它们的编号和摆放依赖下列条件：

（1）任何两道栅栏都不能连续摆放；

（2）石墙必须连续摆放。

如果有一道栅栏被摆放在 3 号位，还有一道栅栏被摆放在 6 号位，则下列哪一项必定为真？【E】

A.鸡笼在 7 号位。

B.障碍门在 2 号位。

C.障碍门在 7 号位。

D.有一面石墙在 1 号位。

E.有一面石墙在 4 号位。

【解析】

1.本题涉及知识点：

本题考查分析推理的列表法和图示法。这两种方法往往在“排序问题”和“分组问题”中能够将题干中的条件图形化，以方便我们进一步的分析。

2.技巧方法：

此类题的解题方法是通过根据题干给出的条件：

（1）列表法：常常用于分类、匹配问题

（2）图示法：常常用于有关排序、方位的问题

3.具体过程：

如果有一道栅栏被摆放在 3 号位，还有一道栅栏被摆放在 6 号位，则根据条件（1）可推出，第三道栅栏必须摆放在 1 号位。列表如下：

1	2	3	4	5	6	7
栅栏		栅栏			栅栏	

根据条件（2）可知，石墙要连续摆放，所以两道石墙必须摆放在 4 号位和 5 号位。列表如下：

1	2	3	4	5	6	7
栅栏		栅栏	石墙	石墙	栅栏	

由上表可以看出，故选 E。

21.某教育机构接到一项课程任务，需要在代号为G、H、J、K、L、M的六个队员中挑选若干人去侦查一件案子。人员的配备需要注意以下条件：

（1）G、H两个人中至少去一个人；

（2）G、K不能一起去；

（3）G、L、M三个人中要派两个人去；

（4）H、J两个人都去或都不去；

（5）J、K两个人中去一人；

（6）L不去，除非K去。

以下哪项是符合题干要求的人员配备？【D】

A.J、K、L三个人去。

B.L、M两个人去。

C.H、K、M三个人去。

D.G、H、J、M四个人去。

E.G、L、K三个人去。

【解析】

1.本题涉及知识点：

本题考查分析推理的列表法和图示法。这两种方法往往在“排序问题”和“分组问题”中能够将题干中的条件图形化，以方便我们进一步的分析。

2.技巧方法：

此类题的解题方法是通过根据题干给出的条件：

（1）列表法：常常用于分类、匹配问题

（2）图示法：常常用于有关排序、方位的问题

3.具体过程：

此题条件较多，可以使用排除法代入选项，将不符合题干条件的选项排除。A选项：不符合条件（5），排除。B选项：不符合条件（1），排除。C选项：不符合条件（4），排除。D选项：与任何条件都不矛盾，正确。E选项：不符合条件（2），排除。故选D。

22.某公司年终评选优秀员工，张一、王二、李三、赵四是入选的四个候选人。该公司规定的评选条件是：①有硕士研究生学历；②岗位业务熟练；③缺勤在两次以内。现在已知：

（1）张一和李三两人中有一人只上过本科；

（2）李三和赵四的最后学历相同；

（3）王二和赵四岗位业务熟练程度相仿；

（4）每个人至少符合一个条件，有三人符合条件①，两人符合条件②，一人符合条件③，

四人中只有一人被评选为优秀员工。

这个人是：【B】

A.张一。

B.李三。

C.王二。

D.赵四。

E.不能确定。

【解析】

1.本题涉及知识点：

本题考查分析推理的列表法和图示法。这两种方法往往在“排序问题”和“分组问题”中能够将题干中的条件图形化，以方便我们进一步的分析。

2.技巧方法：

此类题的解题方法是通过根据题干给出的条件：

（1）列表法：常常用于分类、匹配问题

（2）图示法：常常用于有关排序、方位的问题

3.具体过程：

三个人符合条件①，即四人中三个人有硕士研究生学历；再结合（1）（2）可知，李三和赵四是硕士研究生学历，张一是本科学历，王二是硕士研究生学历，优秀员工不可能是张一。两个人符合条件②，即四人中有两人岗位业务熟练；再结合（3）可知，王二和赵四熟练度相仿，张一和李三熟练度相仿。四人中只有一人被评为优秀员工，如果王二和赵四业务熟练，那么张一和李三就不熟练，此时张一既不满足条件①，也不满足条件②，要保证每个人都至少符合一个条件，那么张一必须要满足条件③，那么就没有人同时满足三个条件，无法选出优秀员工，与题干信息矛盾，所以说明王二和赵四不会是业务熟练的候选人，则张一和李三业务熟练，再结合“张一不可能是优秀员工”可以得出：李三是符合三个条件的候选人。故选B。

23.智能实验室开发了三个能回答简单问题的机器人，起名为天使、魔鬼、常人。天使从不说假话，魔鬼从不说真话，常人既说真话也说假话。它们被贴上A、B、C三个标记，但忘了标记和名字的对应。实验者希望通过它们对问题的回答来辨别它们。三个机器人对问题“A是谁？”分别做了以下回答：A的回答是“我是常人”，B的回答是“A是魔鬼”，C的回答是“A是天使”。

根据这些回答，以下哪项为真？【C】

A.A是天使，B是魔鬼，C是常人。

B.A是天使，B是常人，C是魔鬼。

C.A是魔鬼，B是天使，C是常人。

D.A是常人，B是天使，C是魔鬼。

E.A是常人，B是魔鬼，C是天使。

【解析】

1. 本题涉及知识点：

本题考查分析推理的列表法和图示法。这两种方法往往在“排序问题”和“分组问题”中能够将题干中的条件图形化，以方便我们进一步的分析。

2. 技巧方法：

此类题的解题方法是通过根据题干给出的条件：

（1）列表法：常常用于分类、匹配问题

（2）图示法：常常用于有关排序、方位的问题

3. 具体过程：

此题可将假设法与排除法结合使用。A、B 两项：如果 A 是天使，那么它不可能回答“我是常人”，与题干信息矛盾，排除。C 选项：如果 A 是魔鬼，说假话，则可能会回答“我是常人”；如果 B 是天使，说真话，则会回答“A 是魔鬼”；C 是常人，可说真话可说假话，不需考虑，与题干信息不矛盾，正确。D 选项：如果 A 是常人，可说真话可说假话，不需考虑；如果 B 是天使，说真话，应该回答“A 是常人”，矛盾，排除。E 选项：A 是常人，可说真话可说假话，不需考虑；如果 C 是天使，说真话，应该回答“A 是常人”，矛盾，排除。故选 C。

24～25 题基于以下题干：

某饭店有鸡肉、猪肉、牛肉、土豆、白菜、番茄、青菜 7 种食材，拟让两名厨师炒菜，第一位厨师炒 3 种食材，第二位厨师炒 4 种食材。炒菜需满足以下条件：

（1）番茄必须由第二位厨师炒。

（2）第一位厨师至多炒土豆和白菜其中一种。

（3）鸡肉和牛肉不由同一位厨师炒。

（4）如果猪肉由第一位厨师炒，则白菜必须由第二位厨师炒。

24. 如果第一位厨师炒了鸡肉和白菜，则下列哪项中的食材一定也由第一位厨师炒？【E】

A. 猪肉。

B. 牛肉。

C. 番茄。

D. 土豆。

E. 青菜。

【解析】

1. 本题涉及知识点：

本题考查分析推理的列表法和图示法。这两种方法往往在“排序问题”和“分组问题”中能够将题干中的条件图形化，以方便我们进一步的分析。

2. 技巧方法：

此类题的解题方法是通过根据题干给出的条件：

（1）列表法：常常用于分类、匹配问题

（2）图示法：常常用于有关排序、方位的问题

3.具体过程：

根据补充条件和确定信息（1）（2）（3）可知，第一位厨师炒鸡肉和白菜，第二位厨师炒番茄、土豆和牛肉。将白菜由第一位厨师炒代入条件（4）的后件可以得到，猪肉由第二位厨师炒，第二位厨师已经满足了炒 4 种食材这一条件，所以剩下的青菜一定有第一位厨师炒，故选 E。

25.如果猪肉和青菜一起炒，则可以得出以下哪项？【D】

A.鸡肉由第一位厨师炒。

B.牛肉由第一位厨师炒。

C.猪肉由第二位厨师炒。

D.白菜由第二位厨师炒。

E.青菜由第二位厨师炒。

【解析】

1.本题涉及知识点：

本题考查分析推理的列表法和图示法。这两种方法往往在“排序问题”和“分组问题”中能够将题干中的条件图形化，以方便我们进一步的分析。

2.技巧方法：

此类题的解题方法是通过根据题干给出的条件：

（1）列表法：常常用于分类、匹配问题

（2）图示法：常常用于有关排序、方位的问题

3.具体过程：

根据确定信息（1）（2）可以得到下表信息：

第一位厨师	（鸡肉、牛肉）	
第二位厨师		番茄

剩余条件信息无法利用，我们对于猪肉和青菜进行假设：假设第二位厨师炒猪肉和青菜，那么剩余的土豆和白菜由第一位厨师炒，与条件（2）产生矛盾，所以猪肉、青薬由第一位厨师炒，白菜、土豆由第二位厨师炒。故选 D。

26～27 题基于以下题干：

假设五个人鸠鸠、荡荡、莱莱、函雨、眉眉准备去书店选购一些书籍，可供他们选择的有 6 本书：中国文学类：《平凡的世界》《活着》《围城》；外国文学类：《百年孤独》《1984》《傲慢与偏见》。每个人需要选购两本或三本书籍，每本书籍只能被两个人选购。以下是一些已知信息：

（1）鸠鸠不喜欢外国文学，荡荡中国文学和国外文学各选择了一本。

（2）如果鸠鸠或荡荡选择了《活着》，那么莱莱和函函将会同时选择《百年孤独》。

（3）莱莱和眉眉喜好一致，他们选择的书籍完全相同。

26.根据上述条件，能够推出以下哪个选项一定为真？【B】

A.荡荡选择了《围城》和《百年孤独》。

B.鸠鸠选择了《平凡的世界》和《围城》。

C.莱莱选择了《活着》和《傲慢与偏见》。

D.函函选择了《1984》和《国城》。

E.眉眉选择了《活着》和《百年孤独》。

【解析】

1.本题涉及知识点：

本题考查分析推理的列表法和图示法。这两种方法往往在“排序问题”和“分组问题”中能够将题干中的条件图形化，以方便我们进一步的分析。

2.技巧方法：

此类题的解题方法是通过根据题干给出的条件：

（1）列表法：常常用于分类、匹配问题

（2）图示法：常常用于有关排序、方位的问题

3.具体过程：

首先我们明确题目中的数量分配关系，六本书每本书籍只能被两人选购，所以一共可购买的书籍册数是12次，每人只能选购2～3本，所以分配关系是（2，2，2，3，3）。

通过观察我们可以看出条件（3）能够与条件（2）的后件结合，由于莱莱和眉眉选择的书籍完全一致且每本书只能被两人选，所以莱莱和函函不会同时选择《百年孤独》，否定了条件（2）的后件，进而得到鸠鸠和荡荡都不选《活着》。再结合条件（1）鸠鸠不喜欢外国文学可知，鸠鸠选择的是《平凡的世界》和《围城》，故选B。

27.关于五个人所买书籍又有一个新信息：除非雨函选择《活着》，否则荡荡选择《围城》和《傲慢与偏见》，那么以下哪个选项一定为真？【A】

A.函函选择了《平凡的世界》。

B.莱莱选择了《围城》。

C.函函选择了《百年孤独》。

D.眉眉选择了《平凡的世界》。

E.莱莱选择了《傲慢与偏见》。

【解析】

1.本题涉及知识点：

本题考查分析推理的列表法和图示法。这两种方法往往在“排序问题”和“分组问题”中能够将题干中的条件图形化，以方便我们进一步的分析。

2.技巧方法：

此类题的解题方法是通过根据题干给出的条件：

（1）列表法：常常用于分类、匹配问题

（2）图示法：常常用于有关排序、方位的问题

3.具体过程：

由第一题可知鸠鸠和荡荡没有选《活着》，莱莱和眉眉选择一致，由于数量限制，每本书只能被两人选，所以莱莱和眉眉选择《活着》。这样就否定了补充条件的前件，进而得到荡荡选择《围城》和《傲慢与偏见》。

还需要被一个人选择的《平凡的世界》就能由函函来选，故选 A。

28.管理学院、经济学院、法学院、通信学院和材料学院决定对各自学院的党员档案进行交叉审查，负责审查的支部委员有甲、乙、丙、丁、戊（五人均不是五个学院曾经的党支部委员）。每个学院有三位委员审查，每位委员至少审查两个学院，并且甲和丁不会审查相同的学院。已知：

（1）若甲和乙至少一个去材料学院，则甲和乙都会去法学院。

（2）只有甲、丙、丁都去法学院，甲、丙、丁才至少有两人去经济学院。

（3）除非乙不去材料学院，否则甲、丙、戊都会去通信学院。

如果乙去材料学院，可以得出以下哪项一定为真？【D】

A.如果甲去材料学院，则丙去法学院。

B.如果甲去材料学院，则丙去经济学院。

C.如果丁去材料学院，则甲去管理学院。

D.如果丙去经济学院，则丁去材料学院。

E.如果甲去法学院，则丙去经济学院。

【解析】

1.本题涉及知识点：

本题考查分析推理的列表法和图示法。这两种方法往往在“排序问题”和“分组问题”中能够将题干中的条件图形化，以方便我们进一步的分析。

2.技巧方法：

此类题的解题方法是通过根据题干给出的条件：

（1）列表法：常常用于分类、匹配问题

（2）图示法：常常用于有关排序、方位的问题

3.具体过程：

将问题补充处确定信息“乙去材料学院”代入（1）（3）可知，甲和乙去法学院，并且甲、丙和戊三人都去通信学院。由于“甲和丁不会审查相同的学院”，所以丁不审查法学院和通信学院。

“丁不审查法学院”结合条件（2）可推出，甲、丙和丁三人中至多有一人去经济学院，由于每个学院都有 3 位委员审查，所以剩下的乙和戊去审查经济学院。此时，已确定信息如下：

	管理学院	经济学院	法学院	通信学院	材料学院
甲			√	√	
乙		√	√	×	√
丙				√	
丁			×	×	
戊		√		√	

（每行至少 2√，每列 3√）

观察可知，选项均为假言判断，利用上述推理无法得出答案，故考虑代入选项排除法：

（1）若甲去材料学院，则结合表格可知，无法得到确定信息，故排除 A 和 B；

（2）若丁去材料学院，则结合表格可知，无法得到确定信息，故排除 C；

（3）若甲去法学院，则结合表格可知，无法得到确定信息，故排除 E；

（4）若丙去经济学院，则甲和丁都不去经济学院，此时丁行已有 3×，则丁一定会去管理学院和材料学院。

故选 D。

29～30 题基于以下题干：

宿舍六人钱明、孙明、钱亮、孙亮、钱光、孙光都报名参加了外研社杯全国英语大赛，包括作文、阅读和演讲比赛。每人必须并且只能参加一个项目，每个项目都有两人参加。每人关于参加比赛的情况满足以下条件：

（1）如果钱明参加作文比赛，则孙明不参加演讲比赛。

（2）孙明和孙亮至少有一个人不参加演讲比赛。

（3）如果钱亮参加演讲比赛，那么钱光参加作文比赛。

（4）只有孙光参加演讲比赛，钱光才参加作文比赛。

（5）钱明和钱亮参加的比赛相同。

29. 如果孙明参加演讲比赛，则以下哪项一定为真？【D】

A. 孙光参加作文比赛。

B. 钱光参加作文比赛。

C. 钱明参加演讲比赛。

D. 孙亮参加作文比赛。

E. 孙光参加演讲比赛。

【解析】

1. 本题涉及知识点：

本题考查分析推理的列表法和图示法。这两种方法往往在“排序问题”和“分组问题”中能够

将题干中的条件图形化，以方便我们进一步的分析。

2.技巧方法：

此类题的解题方法是通过根据题干给出的条件：

（1）列表法：常常用于分类、匹配问题

（2）图示法：常常用于有关排序、方位的问题

3.具体过程：

问题补充确定信息“孙明参加演讲”。结合题干信息“每人必须并且只能参加一个项目”可知：孙明不参加另外两项（作文、阅读）。由（1）（2）可知，钱明不参加作文，并且孙亮不参加演讲。

由（5）知，钱明和钱亮参加的比赛相同网，那么“钱明不参加作文”也可以推出“钱亮不参加作文”。

结合（3）（4）可知，钱亮演讲→钱光作文→孙光演讲，由（5）可知，钱亮演讲→钱明也演讲，但是每个比赛只能两个人参加，说明“钱亮演讲”时会产生矛盾，所以钱亮一定不参加演讲比赛，那么钱亮参加阅读比赛。此时，可确定的对应关系如下表：

	钱明	孙明	钱亮	孙亮	钱光	孙光
作文	×	×	×	√		
阅读	√	×	√	×	×	×
演讲	×	√	×	×		

故选D。

30.如果孙明和孙亮参加相同的比赛，则以下哪项一定为真？【D】

A.钱光参加作文比赛

B.孙光参加阅读比赛

C.钱明参加阅读比赛

D.钱光参加演讲比赛

E.钱亮参加作文比赛

【解析】

1.本题涉及知识点：

本题考查分析推理的列表法和图示法。这两种方法往往在“排序问题”和“分组问题”中能够将题干中的条件图形化，以方便我们进一步的分析。

2.技巧方法：

此类题的解题方法是通过根据题干给出的条件：

（1）列表法：常常用于分类、匹配问题

（2）图示法：常常用于有关排序、方位的问题

3.具体过程：

同上题，结合条件（3）（4）（5）可知，钱明和钱亮均不参加演讲比赛。

由（2）可知，孙明和孙亮至少有一个人不参加演讲比赛，而问题补充信息“孙明和孙亮参加相同的比赛”，那么他们二人均不参加演讲比赛，因此剩下的钱光和孙光参加演讲比赛。

	钱明	孙明	钱亮	孙亮	钱光	孙光
作文					×	×
阅读					×	×
演讲	×	×	×	×	√	√

故选 D。

31～32 题基于以下题干：

西瓜瓜有三天假期，共有①吃火锅；②买花；③看望父母；④榨椰汁；⑤剪视频；⑥搬家。共 6 件事需要在假期做完，每件事都在一天之内做完。已知：

（1）每天所做事情的数量各不相同，并且每天都比前一天做的多。

（2）如果②和③不安排在同一天，则②和④安排在同一天，并且④和⑤不安排在同一天。

（3）如果①⑤⑥至少有 2 件事安排在同一天，则②③④需要分别安排在三天。

31. 根据上述信息，以下哪项一定为真？【D】

A. ①②③分别安排在三天。

B. ①③④分别安排在三天。

C. ②③⑥分别安排在三天。

D. ①⑤⑥分别安排在三天。

E. ②③④分别安排在三天。

【解析】

1. 本题涉及知识点：

本题考查分析推理的列表法和图示法。这两种方法往往在“排序问题”和“分组问题”中能够将题干中的条件图形化，以方便我们进一步的分析。

2. 技巧方法：

此类题的解题方法是通过根据题干给出的条件：

（1）列表法：常常用于分类、匹配问题

（2）图示法：常常用于有关排序、方位的问题

3. 具体过程：

观察愿干信息发现无确定信息可用，所以考虑假设法分析。假设②和③不安排在同一天，此时根据（2）可知②和④安排在同一天，④和⑤不安排在同一天，“②④同一天”结合条件（3）知道①、⑤、⑥这三件事分别在三天里做，再结合条件（1）可知，此时②和④在第三天做，③在第二天做。

假设②和③安排在同一天，结合（3）可知①、⑤、⑥这三件事分别在三天里做。此时不论②

和③是否安排在同一天，①⑤⑥都会分别安排在三天去做。故选 D。

32.根据上述信息，以下哪项一定为真？【A】
A.②安排在第三天。
B.③安排在第二天。
C.④安排在第三天。
D.①安排在第一天。
E.⑤安排在第一天。
【解析】
1.本题涉及知识点：
本题考查分析推理的列表法和图示法。这两种方法往往在“排序问题”和“分组问题”中能够将题干中的条件图形化，以方便我们进一步的分析。
2.技巧方法：
此类题的解题方法是通过根据题干给出的条件：
（1）列表法：常常用于分类、匹配问题
（2）图示法：常常用于有关排序、方位的问题
3.具体过程：
已知①⑤⑥是分三天做的，那么②③④就必定是分两天做的，然后来假设如果②③在同一天，那么②必须在第三天：如果②和③不在同一天，那么②④在同一天，而且必须在第三天做：综上，无论哪种情况下，②必定是安排在第三天做的。故选 A。

33～34 题基于以下题干：
小达、小芬、小奇三兄妹出生在体育世家，三人从小便针对性地学习和训练了某些运动项目。已知：三人中两人学习了体操，两人学习了游泳，两人学习了击剑，两人学习了射击。每人都学习了上述 4 种运动的 2～3 种，还知道：
（1）若小达学习了游泳，则小奇也学习了游泳。
（2）若小奇学习了游泳，则小奇也学习了击剑。
（3）若小达学习了击剑，则小芬也学习了击剑。
33.根据以上信息，可以得出以下哪项？【D】
A.小达学习了体操。
B.小芬学习了游泳。
C.小奇学习了射击。
D.小达没有学习击剑。
E.小芬没有学习击剑。
【解析】

1. 本题涉及知识点：

本题考查分析推理的列表法和图示法。这两种方法往往在“排序问题”和“分组问题”中能够将题干中的条件图形化，以方便我们进一步的分析。

2. 技巧方法：

此类题的解题方法是通过根据题干给出的条件：

（1）列表法：常常用于分类、匹配问题

（2）图示法：常常用于有关排序、方位的问题

3. 具体过程：

题干信息如下：

（1）小达学习了游泳➞小奇也学习了游泳。

（2）小奇学习了游泳➞小奇也学习了击剑。

（3）小达学习了击剑➞小芬也学习了击剑。

（4）两人学习了体操（1 人没学习体操）。两人学习了游泳（1 人没学习游泳），两人学习了击钢（1 人没学习击剑），两人学习了射击（1 人没学习射击）。

（5）每人都学习了上述 4 种运动的 2～3 种.

观察上述信息可知，“击剑”覆盖了三个人，属于重复最多的元素，考虑将其作为解题起点：结合信息（3）和（4）可知，若小芬没学习击剑，则小达也没学习击剑，此时与“只有 1 人没学习击剑”产生矛盾，因此可得：小芬一定学习了击剑。

同理，结合信息（1）（2）和（4）可知，若小奇没学习击剑，则小奇没学习游泳，进而可知小达没学习游泳，此时与只有一人没学习游泳矛盾，因此可得：小奇一定学习了击剑。

结合（4）（只有 1 人没学习击剑）可得：小达没学习击剑。

故选 D。

34. 如果小达没学习射击，则可以得出以下哪项？【E】

A. 小奇学习了体操。

B. 小芬学习了游泳。

C. 小达没有学习游泳。

D. 小达没有学习体操。

E. 小芬学习了体操。

【解析】

1. 本题涉及知识点：

本题考查分析推理的列表法和图示法。这两种方法往往在“排序问题”和“分组问题”中能够将题干中的条件图形化，以方便我们进一步的分析。

2. 技巧方法：

此类题的解题方法是通过根据题干给出的条件：

（1）列表法：常常用于分类、匹配问题

（2）图示法：常常用于有关排序、方位的问题

3.具体过程：

由上题可知：小芬学习了击剑，小奇学习了击剑，小达没学习击剑。问题补充确定信息：小达没学习射击。结合“只有 1 人没学习射击”可知，小芬和小奇都学习了射击。结合题干条件可知：每个人擅长 2～3 种，且三个人加起来一共会 8 种，因此三个人分别擅长的数量是 3 种、3 种、2 种。由于小达没学习击剑和射击，那么便是小达学习了 2 种（体操和游泳），小芬和小奇都学习了 3 种（只有 1 种没学习）。

将“小达学习了游泳”代入（1）得，小奇学习了游泳，进一步完善表格如下：

	体操	游泳	击剑	射击
小达	√	√	×	×
小芬	√	×	√	√
小奇	×	√	√	√

故选 E。

35～36 题题干如下：

某学校举行水果拼盘活动，共有火龙果、水蜜桃、西瓜、木瓜 4 种水果可供选择有火火、水水、东东、西西、木木、金金 6 位同学参与该活动。每人选择两种水果，每个水果有三个人选择，并且选择的水果名称的第一个字与自己的姓氏均不相同。并且已知如下条件：

（1）如果火火选择西瓜，那么他也要选择火龙果，

（2）如果火火和水水至少有一个人选择水蜜桃，那么金金也选择水蜜桃。

（3）火火和金金至多有一个人选择水蜜桃，否则金金不选择西瓜。

（4）活动规定西瓜和木瓜不能同时选择。

35.根据上述信息，可以得出以下哪项？【A】

A.金金选择水蜜桃。

B.东东选择水蜜桃。

C.西西选择火龙果。

D.金金选择火龙果。

E.木木选择水蜜桃。

【解析】

1.本题涉及知识点：

本题考查分析推理的列表法和图示法。这两种方法往往在“排序问题”和“分组问题”中能够将题干中的条件图形化，以方便我们进一步的分析。

2.技巧方法：

此类题的解题方法是通过根据题干给出的条件：

（1）列表法：常常用于分类、匹配问题

（2）图示法：常常用于有关排序、方位的问题

3.具体过程：

根据题干，每个人不能选择与自己姓氏相同的，则火火不能选择火龙果，条件一的后件为假，则前件为假，火火不选西瓜，所以火火选择的是水蜜桃和木瓜。由上一步可知，条件二的前件为真，得出后件为真，金金也选择水蜜桃。故选 A。

36.如果东东和木木选择的水果不完全相同，可以得出以下哪项？【C】

A.木木选择火龙果。

B.金金选择西瓜。

C.西西选择火龙果。

D.火火选择西瓜。

E.西西选择水蜜桃。

【解析】

1.本题涉及知识点：

本题考查分析推理的列表法和图示法。这两种方法往往在“排序问题”和“分组问题”中能够将题干中的条件图形化，以方便我们进一步的分析。

2.技巧方法：

此类题的解题方法是通过根据题干给出的条件：

（1）列表法：常常用于分类、匹配问题

（2）图示法：常常用于有关排序、方位的问题

3.具体过程：

接上题，条件三可以表示为“火火和金金都选择水蜜桃，则金金不选西瓜”，所以金金不选西瓜。又因为每个水果有三个人选择，所以水水、东东和木木都选择西瓜。

根据条件四，则东东和水水不选木瓜，所以水水选火龙果和金金、西西选木瓜，又因为每人选两种水果，所以金金不选火龙果。因为东东和木木选择的水果不完全相同，则东东和木木分别选择水蜜桃和火龙果中的一个，且不相同（假设其中一种情况）。可以推出西西不选择水蜜桃。由此可以得到如下表格：

	火火	水水	东东	西西	木木	金金
火龙果	×	√	√	√	×	×
水蜜桃	√	×	×	×	√	√
西瓜	×	√	√	×	√	×
木瓜	√	×	×	√	×	√

由上表可知，西西选择火龙果和木瓜。综上所述，故选 C。

37.狗荡荡有比亚迪、广汽、长安、蔚来、小鹏、理想 6 辆车按顺序由西向东停放在 1 号 6 号共 6 个车位，每辆车停放在一个车位，且必须符合下列条件：

（1）比亚迪在 1 号或 6 号。

（2）长安在 3 号。

（3）蔚来停放的车位在小鹏的西边。

（4）小鹏与理想紧挨着，并且在理想的西边。

（5）如果小鹏在 5 号车位，广汽在 1 号车位。

根据以上信息，以下哪项包括了广汽可能停放的所有车位号码？【C】

A.1 号、2 号。

B.1 号、2 号、5 号。

C.1 号、2 号、6 号。

D.1 号、5 号、6 号。

E.1 号、2 号、4 号。

【解析】

1.本题涉及知识点：

本题考查分析推理的列表法和图示法。这两种方法往往在“排序问题”和“分组问题”中能够将题干中的条件图形化，以方便我们进一步的分析。

2.技巧方法：

此类题的解题方法是通过根据题干给出的条件：

（1）列表法：常常用于分类、匹配问题

（2）图示法：常常用于有关排序、方位的问题

3.具体过程：

观察可知，小鹏属于重复元素且存在与之相关的假言命题，考虑将其作为解题起点。设条件（5）前件为真，即小鹏在 5 号车位，那么广汽在 1 号，结合（1）知比亚迪在 6 号。结合条件（4）可知，理想也在 6 号车位，产生矛盾，因此小鹏不在 5 号车位。

由条件（2）（3）（4）可知，小鹏只可能停在 4 号车位，则理想在 5 号车位。结合条件（1）（3）知，可能的停放情况如下：

情况一：

1	2	3	4	5	6
比亚迪	蔚来	长安	小鹏	理想	广汽

情况二：

1	2	3	4	5	6
蔚来	广汽	长安	小鹏	理想	比亚迪

情况三：

1	2	3	4	5	6
广汽	蔚来	长安	小鹏	理想	比亚迪

故选 C。

38.某市 2018 年的人口发展报告显示，该市常住人口 1170 万。其中，常住外来人口 440 万，户籍人口 730 万。从区级人口分布情况来看，该市 G 区常住人口 240 万，居各区之首；H 区常住人口 200 万，位居第二；同时，这两个区也是吸纳外来人口较多的区域，两个区常住外来人口 200 万，占全市常住外来人口的 45%以上。

根据以上陈述，可以得出以下哪项？【A】

A.该市 G 区的户籍人口比 H 区的常住外来人口多。

B.该市 H 区的户籍人口比 G 区的常住外来人口多。

C.该市 H 区的户籍人口比 H 区的常住外来人口多。

D.该市 G 区的户籍人口比 G 区的常住外来人口多。

E.该市其他各区的常住外来人口都没有 G 区或 H 区的多。

【解析】

1.本题涉及知识点：

本题考查分析推理的数字分析。此类题中常常涉及一些简单的数学知识，需要读者结合相关的初等数学知识进行计算解得。

2.技巧方法：

此类题往往会给较多的数字信息，读者需要再理清条件后，再结合简单的数学计算得到答案。

3.具体过程：

根据题干，可知：常住人口＝户籍人口＋常住外来人口。则题干信息：

①G 常＝G 户＋G 外＝240 万。

②H 常＝H 户＋H 外＝200 万。

③G 外＋H 外＝200 万。

①-③可得：G 户-H 外＝40 万，即 G 区户籍人口比 H 区常住外来人口多 40 万。故选 A。

39.很多成年人对于儿时熟悉的《唐诗三百首》中的许多名诗，常常仅记得几句名句，而不认识作者或诗名。甲校中文系硕士生只有三个年级，每个年级人数相等。统计发现，一年级学生都能把该书中的名句与诗名及其作者对应起来；二年级 2/3 的学生能把该书中的名句与作者对应起来；三年级 1/3 的学生不能把该书中的名句与诗名对应起来。

根据上述信息，关于该校中文系硕士生，可以得出以下哪项？【D】

A.1/3 以上的一、二年级学生不能把该书中的名句与作者对应起来。

B.1/3 以上的硕士生不能将该书中的名句与诗名或作者对应起来。

C.大部分硕士生能将该书中的名句与诗名及其作者对应起来。

D.2/3 以上的一、三年级学生能把该书中的名句与诗名对应起来。

E.2/3 以上的一、二年级学生不能把该书中的名句与诗名对应起来。

【解析】

1.本题涉及知识点：

本题考查分析推理的数字分析。此类题中常常涉及一些简单的数学知识，需要读者结合相关的初等数学知识进行计算解得。

2.技巧方法：

此类题往往会给较多的数字信息，读者需要再理清条件后，再结合简单的数学计算得到答案。

3.具体过程：

题干信息：

①一年级都能对应（名句↔诗名↔作者）。

②二年级 2/3 的学生能对应（名句↔作者）。

③三年级 1/3 的学生不能对应（名句↔诗名）。

④每个年级人数相等。

A 选项，假设每个年级 3 个人，则能把名句和作者对应起来的一年级学生有 3 人，能把名句和作者对应起来的二年级学生有 2 人，所以有 5/6 的一、二年级学生能够把名句和作者对应起来，无法做到的只有 1/6。错误。

B 选项，假设每个年级 3 个人，则能把名句与诗名或作者对应起来的一年级有 3 人可以做到，二年级有 2 人可以做到，三年级有 2 人可以做到，所以能确定有 2/9 的硕士生不能将该书中的名句与诗名或作者对应起来，无法确定超过 1/3。错误。

C 选项，根据已知信息，仅能得知一年级学生可以做到将该书中的名句与诗名及其作者对应起来，占三个年级总数的 1/3，二、三年级的情况无法得知。错误。

D 选项，假设每个年级 3 个人，能把名句和诗名对应起来的一年级学生有 3 人，能把名句和诗名对应起来的三年级学生有 2 人，所以有 5/6 的一、三年级学生能够把名句和诗名对应起来，超过 2/3。正确。

E 选项，无法从已知信息中得出二年级有多少学生不能把该书中的名句与诗名对应起来，无法判断。

故选 D。

40.古人以干支纪年。甲乙丙丁戊己庚辛壬癸为十干，也称天干。子丑寅卯辰巳午未申酉戌亥为十二支，也称地支。顺次以天干配地支，如甲子、乙丑、丙寅、……、癸酉、甲戌、乙亥、丙子等，六十年重复一次，俗称六十花甲子。根据干支纪年，公元 2014 年为甲午年，公元 2015 年为乙未年。

根据以上陈述，可以得出以下哪项？【D】

A.21 世纪会有甲丑年。

B.现代人已不用干支纪年。

C.干支纪年有利于农事。

D.根据干支纪年，公元 2087 年为丁未年。

E.根据干支纪年，公元 2024 年为甲酉年。

【解析】

1.本题涉及知识点：

本题考查分析推理的数字分析。此类题中常常涉及一些简单的数学知识，需要读者结合相关的初等数学知识进行计算解得。

2.技巧方法：

此类题往往会给较多的数字信息，读者需要再理清条件后，再结合简单的数学计算得到答案。

3.具体过程：

题干信息：

①顺次以天干配地支，六十年重复一次。

②公元 2014 年为甲午年，公元 2015 年为乙未年。

A 选项，已知 2014 年甲午年，每隔 10 年天干都为甲，想要知道是否有甲丑，则在每 10 年重复时，判定地支是否会遇到丑年。将地支 12 年标号可以发现，午年在奇数“7”的位置，因此，每隔 10 年进行重复，地支年一定会落在奇数年上，而丑年在偶数“2”的位置，因此，在 21 世纪不会有甲丑年，排除。

B 选项，根据题干信息，无法得出该项，排除。

C 选项，根据题干信息，无法得出该项，排除。

D 选项，干支纪年每 60 年重复，因此 2074 年为甲午年（2014＋60），2075 则为乙未年。2087＝2075＋12，依旧为未年，天干向后推 2 个，则 2087 年为丁未年，正确。

E 选项，2024＝2014＋10，天干不变，地支向前推 2 个，所以 2024 年为甲辰年，排除。

故选 D。

41.某次讨论会共有 18 名参会者。已知：

（1）至少有 5 名青年教师是女性；

（2）至少有 6 名女教师已过中年；

（3）至少有 7 名女青年是教师。

根据上述信息，关于参会人员可以得出以下哪项？【E】

A.有些青年教师不是女性。

B.有些女青年不是教师。

C.青年教师至少有 11 名。

D.女青年至多有 11 名。

E.女教师至少有 13 名。

【解析】

1.本题涉及知识点：

本题考查分析推理的数字分析。此类题中常常涉及一些简单的数学知识，需要读者结合相关的初等数学知识进行计算解得。

2.技巧方法：

此类题往往会给较多的数字信息，读者需要再理清条件后，再结合简单的数学计算得到答案。

3.具体过程：

分析题干所对应的概念间的关系，可把概念按照性别、职业、年龄段等三个维度，一个共同点是都是教师，因此可将题干信息转化为：

①青年女教师≥5 名。

②中年女教师≥6 名。

③青年女教师≥7 名。

由于题干信息均为真，联合①和③可得，青年女教师至少 7 人，再结合②可得，女教师至少 13 人。故选 E。

42.某次讨论会共有 18 名参会者。已知：

（1）至少有 5 名青年教师是女性；

（2）至少有 6 名女教师已过中年；

（3）至少有 7 名女青年是教师。

如果上述三句话两真一假，那么关于参会人员可以得出以下哪项？【A】

A.青年教师至少有 5 名。

B.男教师至多有 10 名。

C.女青年都是教师。

D.女青年至少有 7 名。

E.青年教师都是女性。

【解析】

1.本题涉及知识点：

本题考查分析推理的数字分析。此类题中常常涉及一些简单的数学知识，需要读者结合相关的初等数学知识进行计算解得。

2.技巧方法：

此类题往往会给较多的数字信息，读者需要再理清条件后，再结合简单的数学计算得到答案。

3.具体过程：

已知“三句话两真一假”，由于①和③属于包含关系（①包含于③），如果①为假，那么③一定为假，因此①不能为假。由①真可得，至少 5 名女青年教师，因此至少 5 名青年教师一定为真。故选 A。

43.某大学运动会即将召开，经管学院拟组建一支 12 人的代表队参赛，参赛队员将从该院 4 个年级的学生中选拔。学校规定：每个年级都须在长跑、短跑、跳高、跳远、铅球等 5 个项目中选择 1～2 项参加比赛，其余项目可任意选择；一个年级如果选择长跑，就不能选择短跑或跳高；一个年级如果选择跳远，就不能选择长跑或铅球；每名队员只参加 1 项比赛。已知该院：

（1）每个年级均有队员被选拔进入代表队；

（2）每个年级被选拔进入代表队的人数各不相同；

（3）有两个年级的队员人数相乘等于另一个年级的队员人数。

根据以上信息，一个年级最多可选拔几人？【C】

A.8 人。

B.7 人。

C.6 人。

D.5 人。

E.4 人。

【解析】

1.本题涉及知识点：

本题考查分析推理的数字分析。此类题中常常涉及一些简单的数学知识，需要读者结合相关的初等数学知识进行计算解得。

2.技巧方法：

此类题往往会给较多的数字信息，读者需要再理清条件后，再结合简单的数学计算得到答案。

3.具体过程：

方法一：根据题干信息条件推理。

根据条件（1）可知，每一个年级至少有 1 人；结合条件（2）可假设初始选拔人数为（1、2、3、4），此时总人数为 10，还需选拔 2 人，再结合条件（3），两个年级人数相乘得到的数也不能与其他组人数相同，即只考虑：

2×3＝6，此时 1＋2＋3＋6＝12，符合题意；

或 2×4＝8，此时 1＋2＋4＋8＝15，不合题意；

或 3×4＝12，此时 1＋3＋4＋12＝20，不合题意。

所以只能从已选拔 4 人的年级再选拔 2 人，即选拔人数分布为（1，2，3，6）。则一个年级最多选拔 6 人。故选 C。

方法二：结合选项代入排除。

A 选项，最多 8 人，剩余 4 人从三个年级选拔，结合条件（1），至少每一个年级有 1 人，则选拔人数分配是（1，1，2），与条件（2）矛盾，排除。

B 选项，最多 7 人，剩余 5 人从三个年级选拔，结合条件（1），至少每一个年级有 1 人，则选拔人数分配是（1，2，2）或（1，1，3），都与条件（2）矛盾，排除。

C 选项，最多 6 人，剩余 6 人从三个年级选拔，结合条件（1），至少每一个年级有 1 人，则

选拔人数分配是（1，1，4）或（1，2，3），当选拔人数分配为（1，2，3）时，符合条件（2）“（1，2，3，6）”且符合条件（3）“2×3＝6”，正确。

D 选项，最多 5 人，剩余 7 人从三个年级选拔，结合条件（1），至少每一个年级有 1 人，则选拔人数分配是（1，1，5）、（1，2，4）、（1，3，3）、（2、2、3），都分别与条件（2）或（3）矛盾，排除。

E 选项，最多 4 人，剩余 8 人从三个年级选拔，结合条件（1），至少每一个年级有 1 人，则选拔人数分配是（1，1，6）、（1，2，5）、（1，3，4）、（2，2，4）、（2，3，3），都分别与条件（2）或（3）矛盾，排除。

故选 C。

44.某大学运动会即将召开，经管学院拟组建一支 12 人的代表队参赛，参赛队员将从该院 4 个年级的学生中选拔。学校规定：每个年级都须在长跑、短跑、跳高、跳远、铅球等 5 个项目中选择 1～2 项参加比赛，其余项目可任意选择；一个年级如果选择长跑，就不能选择短跑或跳高；一个年级如果选择跳远，就不能选择长跑或铅球；每名队员只参加 1 项比赛。已知该院：

（1）每个年级均有队员被选拔进入代表队；

（2）每个年级被选拔进入代表队的人数各不相同；

（3）有两个年级的队员人数相乘等于另一个年级的队员人数。

如果某年级人数不是最少的，且选择了长跑，那么对于该年级来说，以下哪项是不可能的？【B】

A.选择短跑或铅球。

B.选择短跑或跳远。

C.选择铅球或跳高。

D.选择长跑或跳高。

E.选择铅球或跳远。

【解析】

1.本题涉及知识点：

本题考查分析推理的数字分析。此类题中常常涉及一些简单的数学知识，需要读者结合相关的初等数学知识进行计算解得。

2.技巧方法：

此类题往往会给较多的数字信息，读者需要再理清条件后，再结合简单的数学计算得到答案。

3.具体过程：

题干信息：

①长跑→¬短跑∧¬跳高。

②跳远→¬长跑∧¬铅球。

③每名队员只参加 1 项比赛。

问题确定信息：某年级人数不是最少的，选择了长跑。结合①根据假言规则“肯前推肯后”可

得：¬短跑∧¬跳高。结合②根据假言规则“否后推否前”可得：¬跳远。因此这个年级不能选择短跑∧不能选择跳高∧不能选择跳远。故选 B。

45.中国是全球最大的卷烟生产国和消费国，但近年来政府通过出台禁烟令、提高卷烟消费税等系列公共政策努力改变这一形象。一项权威调查数据显示，在 2014 年同比上升 2.4%之后，中国卷烟消费量在 2015 年同比下降了 2.4%，这是 1995 年来首次下降。尽管如此，2015 年中国卷烟消费量仍占全球的 45%，但这一下降对全球卷烟总消费量产生巨大影响，使其同比下降了 2.1%。

根据以上信息，可以得出以下哪项？【B】

A.2015 年发达国家卷烟消费量同比下降比率高于发展中国家。

B.2015 年世界其他国家卷烟消费量同比下降比率低于中国。

C.2015 年世界其他国家卷烟消费量同比下降比率高于中国。

D.2015 年中国卷烟消费量大于 2013 年。

E.2015 年中国卷烟消费量恰好等于 2013 年。

【解析】

1.本题涉及知识点：

本题考查分析推理的数字分析。此类题中常常涉及一些简单的数学知识，需要读者结合相关的初等数学知识进行计算解得。

2.技巧方法：

此类题往往会给较多的数字信息，读者需要再理清条件后，再结合简单的数学计算得到答案。

3.具体过程：

题干关键信息：在 2014 年同比上升 2.4%之后，中国卷烟消费量在 2015 年同比下降了 2.4%，2015 年中国卷烟消费量仍占全球的 45%，这一下降使全球卷烟总消费量的同比下降了 2.1%。

A 选项，题干并未涉及发达国家的卷烟消费量，不能根据题干得出。

B 选项，根据 2015 年中国卷烟消费量下降 2.4%，而全世界卷烟消费量同比下降只有 2.1%，从而可断定 2015 年全世界其他国家的卷烟消费量下降比率低于中国，正确。

C 选项，跟 B 选项矛盾，错误。

D 选项，假设 2013 年中国卷烟消费总量是 P，那么 2014 年为 P（1＋2.4%），2015 年为 P（1＋2.4%）（1%－2.4%），所以 2015 年中国卷烟消费量小于 2013 年，选项错误。

E 选项，跟 D 选项同理可知，错误。

故选 B。

46.有 A、B、C、D 四个有实力的排球队进行循环赛（每个队与其他队各比赛 1 场）。比赛结果，B 队输掉了 1 场，C 队比 B 队少赢 1 场，而 B 队又比 D 队少赢 1 场。

关于 A 队的名次，下列哪项为真？【D】

A.第一名。
B.第二名。
C.第三名。
D.第四名。
E.条件不足，不能判定。
【解析】
1.本题涉及知识点：
本题考查分析推理的数字分析。此类题中常常涉及一些简单的数学知识，需要读者结合相关的初等数学知识进行计算解得。
2.技巧方法：
此类题往往会给较多的数字信息，读者需要再理清条件后，再结合简单的数学计算得到答案。
3.具体过程：
排球比赛没有平局的情况，由于是四个队进行循环赛，所以每个队要比赛3场，四个队一共比赛了12场。而这12场比赛的结果应该是6赢6输。根据题干可知，B队输1场，即赢3－1＝2场；C队赢1场（2－1＝1）；D队赢3场（2＋1＝3）。于是B队、C队和D队已赢6场（2＋1＋3＝6），所以A队赢0场，即3场皆输。故选D。

47.刚刚结束了男子排球的赛事，体育新闻报道："在男子排球比赛中，中国队在与美国队比赛时，发扬了不屈不挠、勇于拼搏的精神，尤其是在第五局比赛中，中国队在2：10落后的不利形势下，不急不躁，敢打敢拼，奋起直追，将比分扳成10：10平，并最终以16：14拿下了这关键的一局。"
根据以上报道，在第五局比赛中，下面哪种情况是不可能发生的？【D】
A.中国队与美国队的比分为0：6。
B.中国队与美国队的比分为1：7。
C.中国队与美国队的比分为2：8。
D.中国队与美国队的比分为3：11。
E.中国队与美国队的比分为10：11。
【解析】
1.本题涉及知识点：
本题考查分析推理的数字分析。此类题中常常涉及一些简单的数学知识，需要读者结合相关的初等数学知识进行计算解得。
2.技巧方法：
此类题往往会给较多的数字信息，读者需要再理清条件后，再结合简单的数学计算得到答案。
3.具体过程：
比分过程：①0：0→②2：10→③10：10→④16：14。A选项：可能是在①到②的过程中出现

的分数，即 0：0→0：6→2：10。B 选项：可能是在①到②的过程中出现的分数，即 0：0→1：7→2：10。C 选项：可能是在①到②的过程中出现的分数，即 0：0→2：8→2：10。D 选项：中国队是 3 分，说明在②到③的过程中；美国队是 11 分，说明在③到④的过程中；两个过程并不一致，说明这种情况不可能发生。E 选项：可能是在③到④的过程中出现的分数，即 10：10→10：11→16：14。故选 D。

48.有人养了一些兔子，别人问他有多少只雌兔和雄兔？他回答：在所有的兔子中，每一只雄兔的雌性同伴比他的雄性同伴少一只；而每一只雌兔的雄性同伴比他的雌性同伴的两倍少两只。则请问，一共有多少只雌兔？多少只雄兔？【A】

A.6，8。

B.8，10。

C.10，12。

D.8，14。

E.12，14。

【解析】

1.本题涉及知识点：

本题考查分析推理的数字分析。此类题中常常涉及一些简单的数学知识，需要读者结合相关的初等数学知识进行计算解得。

2.技巧方法：

此类题往往会给较多的数字信息，读者需要再理清条件后，再结合简单的数学计算得到答案。

3.具体过程：

直接采用数学方法计算:设雄兔有 Y 只,雌兔 X 只,则根据已知条件可得:X-(Y-1)＝-1,Y-2(X-1)＝-2，解出 X＝6，Y＝8，故选 A。

论证总论、削弱论证

1.近 10 年来，移居清河界森林周边地区生活的居民越来越多。环保组织的调查统计表明，清河界森林中百灵鸟的数量近十年来呈明显下降的趋势。但是，恐怕不能把这归咎于森林周边地区居民的增多，因为森林的面积并没有因为周边居民人口的增多而减少。

以下哪项如果为真，最能削弱题干的论证？【C】

A.警方每年都接到报案称：来自全国各地的不法分子无视禁令，深入清河界森林捕猎。

B.清河界森林的面积虽没减少，但由于几个主要木材集团公司的滥砍滥伐，森林中树木的数量锐减。

C.清河界森林周边居民丢弃的生活垃圾吸引了越来越多的乌鸫，这是一种专门觅食百灵鸟卵的鸟类。

D.清河界森林中除百灵鸟的数量近 10 年来呈明显下降的趋势外，其余的野生动物都生长态势良好。

E.清河界森林周边的居民大都从事农业，只有少数经营商业。

【解析】

1.本题涉及知识点：

本题考查论证推理的“削弱类”。

削弱的特点是题干中给出一个完整的论证或者表达某种观点，要求从备选项中寻找到最能反驳或削弱题干的选项。

削弱题型的提问方式：

“以下哪项如果为真，最能削弱上述论证？”

“以下哪项如果为真，能够最有力地削弱上述论证的结论？”

“以下哪项如果为真，最可能削弱上述推断？”

“以下哪项如果为真，最不可能削弱上述论证的结论？”

“以下哪项如果为真，最不可能质疑上述推断？”

“以下各项都是对上述看法的质疑，除了？”

2.技巧方法：

对于削弱类论证推理，首先最重要的是找“**论点**”和“**论据**”，然后：

（1）质疑观点：

直接指出论点是不成立的。

（2）割裂关系（断桥法）

其思路是指出论据无法推出论点，或者指出即使论据为真，论点也为假。具体可分为“直接割裂”和“间接割裂”，直接割裂的特征是论据和论点话题不一致，间接割裂的特征是引入新话题。

（3）质疑论据

直接指出论据不成立。

3.具体过程：

C项意味着，人口的增多导致垃圾变多，进而引来大量乌鸫，产生相应的结果就是百灵的减少，所以清河界森林中百灵鸟的数量近十年来呈明显下降趋势的根本原因，就是森林周边地区居民的增多，没有别的原因。A、B两项都加强了题干，D项为无关。故选C。

2.母亲：这学期冬冬的体重明显下降，我看这是因为他的学习负担太重了。

父亲：冬冬体重下降和学习负担没有关系。医生说冬冬营养不良，我看这是冬冬体重下降的原因。

以下哪项如果为真，最能对父亲的意见提出质疑？【A】

A.学习负担过重，会引起消化紊乱，妨碍对营养的正常吸收。

B.隔壁松松和冬冬一个班，但松松是个小胖墩，正在减肥。

C.由于学校的重视和努力，这学期冬冬和同学们的学习负担比上学期有所减轻。

D.现在学生的普遍问题是过于肥胖，而不是体重过轻。

E.冬冬所在的学校承认学生的负担偏重，并正在采取措施解决。

【解析】

1.本题涉及知识点：

本题考查论证推理的“削弱类”。

削弱的特点是题干中给出一个完整的论证或者表达某种观点，要求从备选项中寻找到最能反驳或削弱题干的选项。

削弱题型的提问方式：

“以下哪项如果为真，最能削弱上述论证？”

“以下哪项如果为真，能够最有力地削弱上述论证的结论？”

“以下哪项如果为真，最可能削弱上述推断？”

“以下哪项如果为真，最不可能削弱上述论证的结论？”

“以下哪项如果为真，最不可能质疑上述推断？”

“以下各项都是对上述看法的质疑，除了？”

2.技巧方法：

对于削弱类论证推理，首先最重要的是找“**论点**”和“**论据**”，然后：

（1）质疑观点：

直接指出论点是不成立的

（2）割裂关系（断桥法）

其思路是指出论据无法推出论点，或者指出即使论据为真，论点也为假。具体可分为“直接割裂”和“间接割裂”，直接割裂的特征是论据和论点话题不一致，间接割裂的特征是引入新话

题。

（3）质疑论据

直接指出论据不成立。

3.具体过程：

题干中的父亲认为，冬冬体重下降的原因是营养不良，但是A项却指出，营养不良又可以是由学习负担过重引起的。这样，营养不良仅仅是冬冬体重下降的表面原因，而真正的原因还是学习负担过重，所以，父亲说的“冬冬体重下降和学习负担过重没有关系”是不对的。B、C两项是对父亲的意见的支持，D、E两项不能构成对父亲意见的质疑。故选A。

3.有些低碳经济是绿色经济，因此低碳经济都是高技术经济。

以下哪项如果为真，最能反驳上述论证？【A】

A.绿色经济都不是高技术经济。

B.绿色经济有些是高技术经济。

C.有些低碳经济不是绿色经济。

D.有些绿色经济不是低碳经济。

E.低碳经济就是绿色经济。

【解析】

1.本题涉及知识点：

本题考查论证推理的“削弱类”。

削弱的特点是题干中给出一个完整的论证或者表达某种观点，要求从备选项中寻找到最能反驳或削弱题干的选项。

削弱题型的提问方式：

“以下哪项如果为真，最能削弱上述论证？”

“以下哪项如果为真，能够最有力地削弱上述论证的结论？”

“以下哪项如果为真，最可能削弱上述推断？”

“以下哪项如果为真，最不可能削弱上述论证的结论？”

“以下哪项如果为真，最不可能质疑上述推断？”

“以下各项都是对上述看法的质疑，除了？”

2.技巧方法：

对于削弱类论证推理，首先最重要的是找“**论点**”和“**论据**”，然后：

（1）质疑观点：

直接指出论点是不成立的。

（2）割裂关系（断桥法）

其思路是指出论据无法推出论点，或者指出即使论据为真，论点也为假。具体可分为“直接割裂”和“间接割裂”，直接割裂的特征是论据和论点话题不一致，间接割裂的特征是引入新话

题。

（3）质疑论据

直接指出论据不成立。

3.具体过程：

本题题干论证要正确必须假设：所有绿色经济都是高技术经济。A 项正好否定了这一假设。该项和题干假设之间为反对关系，当 A 项为真时题干论证的假设必假。B 项和 E 项都是肯定判断，不能反驳题干。C、D 两项的反驳力度都不如 A 项。

4.春天的兰花是美丽的，即使没有人欣赏它。

上述文字是对下列哪项的反驳？【D】

A.人们只能看见他们想看的。

B.美丽是肤浅的。

C.味道是不可数的。

D.美丽只存在于每个人的眼中。

E.人最大的快乐是对美丽的玷污。

【解析】

1.本题涉及知识点：

本题考查论证推理的“削弱类”。

削弱的特点是题干中给出一个完整的论证或者表达某种观点，要求从备选项中寻找到最能反驳或削弱题干的选项。

削弱题型的提问方式：

“以下哪项如果为真，最能削弱上述论证？”

“以下哪项如果为真，能够最有力地削弱上述论证的结论？”

“以下哪项如果为真，最可能削弱上述推断？”

“以下哪项如果为真，最不可能削弱上述论证的结论？”

“以下哪项如果为真，最不可能质疑上述推断？”

“以下各项都是对上述看法的质疑，除了？”

2.技巧方法：

对于削弱类论证推理，首先最重要的是找“**论点**”和“**论据**”，然后：

（1）质疑观点：

直接指出论点是不成立的。

（2）割裂关系（断桥法）

其思路是指出论据无法推出论点，或者指出即使论据为真，论点也为假。具体可分为“直接割裂”和“间接割裂”，直接割裂的特征是论据和论点话题不一致，间接割裂的特征是引入新话题。

（3）质疑论据

直接指出论据不成立。

3.具体过程：

题干断定“没有人欣赏的春天也是美丽的”，D 项则说“没有人欣赏的春天不美丽”。题干断定与该项矛盾。直接对题干进行反驳。故选 D。

5.根据现有物理学定律，任何物质的运动速度都不可能超过光速，但最近一次天文观测结果向这条定律发起了挑战。距离地球遥远的 IC310 星系拥有一个活跃的黑洞，掉入黑洞的物质产生了伽马射线冲击波。有些天文学家发现，这束伽马射线的速度超过了光速，因为它只用了 4.8 分钟就穿越了黑洞边界，而光需要 25 分钟才能走完这段距离。由此，这些天文学家提出光速不变定律需要修改了。

以下哪项如果为真，最能质疑上述天文学家所做的结论？【B】

A.如果天文学家的观测没有问题，光速不变定律就需要修改。

B.要么天文学家的观测有误，要么有人篡改了天文观测数据。

C.或者光速不变定律已经过时，或者天文学家的观测有误。

D.天文观测数据可能存在偏差，毕竟 IC310 星系离地球很远。

E.光速不变定律已经历过去多次实践检验，没有出现反例。

【解析】

1.本题涉及知识点：

本题考查论证推理的“削弱类”。

削弱的特点是题干中给出一个完整的论证或者表达某种观点，要求从备选项中寻找到最能反驳或削弱题干的选项。

削弱题型的提问方式：

“以下哪项如果为真，最能削弱上述论证？”

“以下哪项如果为真，能够最有力地削弱上述论证的结论？”

“以下哪项如果为真，最可能削弱上述推断？”

“以下哪项如果为真，最不可能削弱上述论证的结论？”

“以下哪项如果为真，最不可能质疑上述推断？”

“以下各项都是对上述看法的质疑，除了？”

2.技巧方法：

对于削弱类论证推理，首先最重要的是找“**论点**”和“**论据**”，然后：

（1）质疑观点：

直接指出论点是不成立的。

（2）割裂关系（断桥法）

其思路是指出论据无法推出论点，或者指出即使论据为真，论点也为假。具体可分为“直接割

裂”和“间接割裂”，直接割裂的特征是论据和论点话题不一致，间接割裂的特征是引入新话题。

（3）质疑论据

直接指出论据不成立。

3.具体过程：

根据题干关键词“由此”可知：

结论：光速不变定律需要修改。

前提：伽马射线的速度超过了光速。

A 选项，观测没有问题（伽马射线的速度超过了光速为真），光速不变定律就需要修改。支持题干结论。

B 选项，由“要么……要么……”可知选项为不相容选言判断，即“观测有问题”与“数据被篡改”二者必居其一，直接否定了题干的前提，即“伽马射线的速度超过了光速”为假，说明光速不变定律无须修改，有力质疑了题干结论。

C 选项，与 A 同理，对题干有支持作用。即如果光速不变定律就已经过时，那么是需要修改的。

D 选项，数据“可能”存在偏差，这一说法有削弱作用，但削弱力度有限。

E 选项，“过去”没有出现反例，并不能质疑最近一次的发现，故该项没有涉及题干论证，不能质疑。

故选 B。

6.经过对最近十年的统计资料进行分析，大连市因癌症死亡的人数比例比全国城市的平均值要高两倍。而在历史上大连市一直是癌症特别是肺癌的低发病地区。看来，大连市最近这十年对癌症的防治出现了失误。

以下哪项如果为真，最能削弱上述论断？【B】

A.十年来大连市的人口增长和其他城市比起来并不算快。

B.大连市的气候和环境适合疗养，很多癌症病人在此地走过了最后一段人生之路。

C.大连市最近几年医疗保健的投入连年上升，医疗设施有了极大的改善。

D.大连市的医学院在以中医理论探讨癌症机理方面取得了突破性的进展。

E.尽管肺癌的死亡率上升，但大连市的肺结核死亡率几乎降到了零。

【解析】

1.本题涉及知识点：

本题考查论证推理的“削弱类”。

削弱的特点是题干中给出一个完整的论证或者表达某种观点，要求从备选项中寻找到最能反驳或削弱题干的选项。

削弱题型的提问方式：

“以下哪项如果为真，最能削弱上述论证？”

“以下哪项如果为真，能够最有力地削弱上述论证的结论？”
“以下哪项如果为真，最可能削弱上述推断？”
“以下哪项如果为真，最不可能削弱上述论证的结论？”
“以下哪项如果为真，最不可能质疑上述推断？”
“以下各项都是对上述看法的质疑，除了？”

2.技巧方法：

对于削弱类论证推理，首先最重要的是找“**论点**”和“**论据**”，然后：

（1）质疑观点：

直接指出论点是不成立的。

（2）割裂关系（断桥法）

其思路是指出论据无法推出论点，或者指出即使论据为真，论点也为假。具体可分为“直接割裂”和“间接割裂”，直接割裂的特征是论据和论点话题不一致，间接割裂的特征是引入新话题。

（3）质疑论据

直接指出论据不成立。

3.具体过程：

根据指示词看来将题干论证梳理如下：

论据：①最近十年大连市因癌症死亡的人数比例比全国城市的平均值要高两倍；

②历史上大连市一直是癌症特别是肺癌的低发病地区。

论点：大连市最近十年对癌症的防治出现了失误。

显然，题干在分析大连市因癌症死亡的人数比例高于全国城市的平均值的原因，属于典型的果因推理，故考虑割裂因果关系或指出另有他因。

A 项，无关选项，题干并未比较大连市和其他城市人口增长的快慢。

B 项，另有他因，指出可能是癌症病人在此地疗养导致大连因癌症死亡的人数比例高，削弱了题干。

C 项，无关选项，医疗设施有了改善不能说明对癌症的防治没有出现失误。

D 项，无关选项，该项提及的是理论方面的进展，和癌症防治无关。

E 项，无关选项，题干不讨论肺结核的情况。

故选 B。

7.自从《行政诉讼法》颁布以来，“民告官”的案件成为了社会关注的热点。人们普遍担心的是，“官官相护”会成为公正审理此类案件的障碍。但据H省本年度的调查显示，凡正式立案审理的“民告官”案件，65%都是以原告胜诉结案。这说明，H省的法院在审理“民告官”的案件中，并没有出现社会舆论所担心的“官官相护”。

以下哪项如果为真，最能削弱上述论证？【A】

A.在“民告官”案件中，原告如果不掌握能胜诉的确凿证据，一般不会起诉。
B.有关部门收到的关于司法审理有失公正的投诉，H省要多于周边省份。
C.所谓“民告官”的案件，在法院受理的案件中，只占很小的比例。
D.在“民告官”的案件审理中，司法公正不能简单地理解为原告胜诉。
E.由于新闻媒介的特殊关注，“民告官”案件的审理的透明度要大大高于其他的案件。

【解析】

1.本题涉及知识点：

本题考查论证推理的“削弱类”。

削弱的特点是题干中给出一个完整的论证或者表达某种观点，要求从备选项中寻找到最能反驳或削弱题干的选项。

削弱题型的提问方式：

“以下哪项如果为真，最能削弱上述论证？”
“以下哪项如果为真，能够最有力地削弱上述论证的结论？”
“以下哪项如果为真，最可能削弱上述推断？”
“以下哪项如果为真，最不可能削弱上述论证的结论？”
“以下哪项如果为真，最不可能质疑上述推断？”
“以下各项都是对上述看法的质疑，除了？”

2.技巧方法：

对于削弱类论证推理，首先最重要的是找“**论点**”和“**论据**”，然后：

（1）质疑观点：

直接指出论点是不成立的

（2）割裂关系（断桥法）

其思路是指出论据无法推出论点，或者指出即使论据为真，论点也为假。具体可分为“直接割裂”和“间接割裂”，直接割裂的特征是论据和论点话题不一致，间接割裂的特征是引入新话题。

（3）质疑论据

直接指出论据不成立。

3.具体过程：

题干论点是：H省的法院在审理民告官的案件中，并没有出现社会舆论所担心的官官相护。论据是：在正式立案审理的“民告官”案件，65%都是以原告胜诉结案，论点是否成立，关键是要看这类案件中原告本来应该得到的胜诉率。如果原告本来应该得到的胜诉率远远高于65%，就是对论点的削弱，即A项为真，说明还是出现了社会舆论所担心的“官官相护”。故选A。

8.有人对某位法官在性别歧视类案件审理中的公正性提出了质疑。这一质疑不能成立。因为有记录表明，该法官审理的这类案件中60%的获胜方为女性，这说明该法官并未在性别歧视类案

件的审理中有失公正。

以下哪项如果为真，将对上述论证构成质疑？【C】

Ⅰ.在性别歧视案件中，女性原告如果没有确凿的理由和证据，一般不会起诉。

Ⅱ.一个为人公正的法官在性别歧视案件的审理中保持公正也是件很困难的事情。

Ⅲ.统计数据表明，如果不是因为遭到性别歧视，女性应该在60%以上的此类案件的诉讼中获胜。

A.仅仅Ⅰ。

B.仅仅Ⅰ和Ⅱ。

C.仅仅Ⅰ和Ⅲ。

D.仅仅Ⅱ和Ⅲ。

E.Ⅰ、Ⅱ和Ⅲ。

【解析】

1.本题涉及知识点：

本题考查论证推理的“削弱类”。

削弱的特点是题干中给出一个完整的论证或者表达某种观点，要求从备选项中寻找到最能反驳或削弱题干的选项。

削弱题型的提问方式：

“以下哪项如果为真，最能削弱上述论证？”

“以下哪项如果为真，能够最有力地削弱上述论证的结论？”

“以下哪项如果为真，最可能削弱上述推断？”

“以下哪项如果为真，最不可能削弱上述论证的结论？”

“以下哪项如果为真，最不可能质疑上述推断？”

“以下各项都是对上述看法的质疑，除了？”

2.技巧方法：

对于削弱类论证推理，首先最重要的是找“**论点**”和“**论据**”，然后：

（1）质疑观点：

直接指出论点是不成立的

（2）割裂关系（断桥法）

其思路是指出论据无法推出论点，或者指出即使论据为真，论点也为假。具体可分为“直接割裂”和“间接割裂”，直接割裂的特征是论据和论点话题不一致，间接割裂的特征是引入新话题。

（3）质疑论据

直接指出论据不成立。

3.具体过程：

题干依据该法官审理的这类案件中60%的获胜方为女性，得出该法官并未在性别歧视类案件的

审理中有失公正的论点。我们只要说明在性别歧视案件中，女性本来的胜诉率应该在60%以上，就是对论点的削弱，说明该法官在性别歧视类案件的审理中还是有失公正。Ⅰ和Ⅲ正是说明女性本来胜率应该在60%以上，削弱了题干论点。故选C。

9.某航空公司为了增加效益，吸引更多的乘客，决定有条件地将票价下调，条件是：享受优惠票价者必须恰好提前两天航程订票。该公司的这一决策是有失周全的，因为航班乘客很多是因公出差，他们本来是可以支付全额票价，现在却支付了优惠价，从而减少了航空公司的收入。以下哪项如果为真，能够最有力地削弱上述论证？【B】

A.统计数据表明，在航运乘客中，因公出差者占航运总数的50%左右。

B.因公出差者必须提前两天以上安排出差事宜，包括订票。

C.在航运乘客中，因公出差者，无论在绝对量还是在相对比上，都有下降的趋势。

D.因公出差者并非全都不在乎票价的高低。

E.因公出差者中很多是回头客，有些是常年的固定客户。

【解析】

1.本题涉及知识点：

本题考查论证推理的“削弱类”。

削弱的特点是题干中给出一个完整的论证或者表达某种观点，要求从备选项中寻找到最能反驳或削弱题干的选项。

削弱题型的提问方式：

“以下哪项如果为真，最能削弱上述论证？”

“以下哪项如果为真，能够最有力地削弱上述论证的结论？”

“以下哪项如果为真，最可能削弱上述推断？”

“以下哪项如果为真，最不可能削弱上述论证的结论？”

“以下哪项如果为真，最不可能质疑上述推断？”

“以下各项都是对上述看法的质疑，除了？”

2.技巧方法：

对于削弱类论证推理，首先最重要的是找“**论点**”和“**论据**”，然后：

（1）质疑观点：

直接指出论点是不成立的

（2）割裂关系（断桥法）

其思路是指出论据无法推出论点，或者指出即使论据为真，论点也为假。具体可分为“直接割裂”和“间接割裂”，直接割裂的特征是论据和论点话题不一致，间接割裂的特征是引入新话题。

（3）质疑论据

直接指出论据不成立。

3.具体过程：

题干中说明航空公司的决策是有失周全的。因为航班乘客很多是因公出差，他们本来可以支付全额票价，现在支付了优惠价。要想削弱题干论证，只要证明因公出差没有享受到优惠价就可以了，而B项正是证明了这一观点，因公出差者根本享受不到票价优惠的好处。所以，该公司的决策还是周全的。故选B。

10.小丽在情人节那天收到了专递公司送来的一束鲜花。如果这束花是熟人送的，那么送花人一定知道小丽不喜欢玫瑰而喜欢紫罗兰。但小丽收到的是玫瑰。如果这束花不是熟人送的，那么花中一定附有签字的名片。但小丽收到的花中没有名片。因此，专递公司肯定犯了以下的某种错误；或者该送紫罗兰却误送了玫瑰；或者失落了花中的名片；或者这束花应该是送给别人的。

以下哪项如果为真，最能削弱上述论证？【C】

A.女士在情人节收到的鲜花一般都是玫瑰。

B.有些人送花，除了取悦对方外，还有其他目的。

C.有些人送花是出于取悦对方以外的其他目的。

D.不是熟人不太可能给小丽送花。

E.上述专递公司在以往的业务中从未有过失误的记录。

【解析】

1.本题涉及知识点：

本题考查论证推理的“削弱类”。

削弱的特点是题干中给出一个完整的论证或者表达某种观点，要求从备选项中寻找到最能反驳或削弱题干的选项。

削弱题型的提问方式：

“以下哪项如果为真，最能削弱上述论证？”

“以下哪项如果为真，能够最有力地削弱上述论证的结论？”

“以下哪项如果为真，最可能削弱上述推断？”

“以下哪项如果为真，最不可能削弱上述论证的结论？”

“以下哪项如果为真，最不可能质疑上述推断？”

“以下各项都是对上述看法的质疑，除了？”

2.技巧方法：

对于削弱类论证推理，首先最重要的是找“**论点**”和“**论据**”，然后：

（1）质疑观点：

直接指出论点是不成立的

（2）割裂关系（断桥法）

其思路是指出论据无法推出论点，或者指出即使论据为真，论点也为假。具体可分为“直接割

裂”和“间接割裂”，直接割裂的特征是论据和论点话题不一致，间接割裂的特征是引入新话题。

（3）质疑论据

直接指出论据不成立。

3.具体过程：

题干论点是一个“或者……或者……或者”的选言命题，C项正好对该论点构成了否定，即专递公司没有误送玫瑰，没有遗失花中的名片，这束花也不是送给别人的，就是送给小丽的，即出于取悦以外的其他目的，可能是让小丽难受。B项削弱力度不如C项。故选C。

11.现在市面上电子版图书越来越多，其中包括电子版的文学名著，而且价格都很低。另外，人们只要打开电脑，在网上几乎可以读到任何一本名著。这种文学名著的普及，会大大改变大众的阅读品味，有利于造就高素质的读者群。

以下哪项如果为真，能够削弱上述论证？【D】

A.许多读者认为电脑阅读不方便，宁可选择印刷版读物。

B.文学名著的普及率一直不如大众读物，特别是不如健身、美容和智力开发等大众读物。

C.一个高素质的读者不仅仅需要具备文学素养。

D.真正对文学有兴趣的人不会因文学名著的价钱高或不方便而放弃获得和阅读文学名著的机会，而对文学没有兴趣的人则相反。

E.在互联网上阅读名著仍然需要收费。

【解析】

1.本题涉及知识点：

本题考查论证推理的“削弱类”。

削弱的特点是题干中给出一个完整的论证或者表达某种观点，要求从备选项中寻找到最能反驳或削弱题干的选项。

削弱题型的提问方式：

“以下哪项如果为真，最能削弱上述论证？”

“以下哪项如果为真，能够最有力地削弱上述论证的结论？”

“以下哪项如果为真，最可能削弱上述推断？”

“以下哪项如果为真，最不可能削弱上述论证的结论？”

“以下哪项如果为真，最不可能质疑上述推断？”

“以下各项都是对上述看法的质疑，除了？”

2.技巧方法：

对于削弱类论证推理，首先最重要的是找“**论点**”和“**论据**”，然后：

（1）质疑观点：

直接指出论点是不成立的

（2）割裂关系（断桥法）

其思路是指出论据无法推出论点，或者指出即使论据为真，论点也为假。具体可分为“直接割裂”和“间接割裂”，直接割裂的特征是论据和论点话题不一致，间接割裂的特征是引入新话题。

（3）质疑论据

直接指出论据不成立。

3.具体过程：

D项意味着，对文学名著没有兴趣的人不会因为有互联网而接触文学名著，而对文学有兴趣的人则不会因为没有互联网而不接触文学名著，这就有力地削弱了题干论证。B项和E项的削弱力度远远不如D项。故选D。

12.随着互联网的发展，人们的购物方式有了新的选择。很多年轻人喜欢在网络上选择自己满意的商品，通过快递送上门，购物足不出户，非常便捷。刘教授据此认为，那些实体商场的竞争力会受到互联网的冲击，在不远的将来，会有更多的网络商店取代实体商店。

以下哪项如果为真，最能削弱刘教授的观点？【E】

A.网络购物虽然有某些便利，但容易导致个人信息被不法分子利用。

B.有些高档品牌的专卖店，只愿意采取街面实体商店的销售方式。

C.网络商店与快递公司在货物丢失或损坏的赔偿方面经常互相推诿。

D.购买黄金珠宝等贵重物品，往往需要现场挑选，且不适宜网络支付。

E.通常情况下，网络商店只有在其实体商店的支撑下才能生存。

【解析】

1.本题涉及知识点：

本题考查论证推理的“削弱类”。

削弱的特点是题干中给出一个完整的论证或者表达某种观点，要求从备选项中寻找到最能反驳或削弱题干的选项。

削弱题型的提问方式：

“以下哪项如果为真，最能削弱上述论证？”

“以下哪项如果为真，能够最有力地削弱上述论证的结论？”

“以下哪项如果为真，最可能削弱上述推断？”

“以下哪项如果为真，最不可能削弱上述论证的结论？”

“以下哪项如果为真，最不可能质疑上述推断？”

“以下各项都是对上述看法的质疑，除了？”

2.技巧方法：

对于削弱类论证推理，首先最重要的是找“**论点**”和“**论据**”，然后：

（1）质疑观点：

直接指出论点是不成立的

（2）割裂关系（断桥法）

其思路是指出论据无法推出论点，或者指出即使论据为真，论点也为假。具体可分为“直接割裂”和“间接割裂”，直接割裂的特征是论据和论点话题不一致，间接割裂的特征是引入新话题。

（3）质疑论据

直接指出论据不成立。

3.具体过程：

根据指示词据此认为将题干论证梳理如下：

论据：网络购物方式非常便捷。

论点：实体商场的竞争力会受到互联网的冲击，在不远的将来，会有更多的网络商店取代实体商店。（预测结果）

题干是因果推理，故考虑指出原因不成立或预测失败。

A项、B项、C项、D项，干扰选项，这几项均指出网络购物存在某种缺陷，或者网络购物在某些方面不如实体商店。但这不意味着网络购物整体上比实体商店差，因此，网络购物依然可能取代实体商店，故这几项均无法有效削弱题干。

E项，指出预测失败，该项指出网络商店必须依赖实体商店，因此，网络商店无法取代实体商店，故该项最强地削弱了题干。

故选E。

13.光线的照射，有助于缓解冬季忧郁症。研究人员曾对九名患者进行研究，他们均因冬季白天变短而患上了冬季忧郁症。研究人员让患者在清早和傍晚各接受三小时伴有花香的强光照射。一周之内，七名患者完全摆脱了抑郁，另外两人也表现出了显著的好转。由于光照会诱使身体误以为夏季已经来临，这样便治好了冬季忧郁症。

以下哪项如果为真，最能削弱上述论证的结论？【E】

A.研究人员在强光照射时有意使用花香伴随，对于改善患上冬季忧郁症的患者的适应症有不小的作用。

B.九名患者中最先痊愈的三位均为女性，而对男性患者治疗效果较为迟缓。

C.该实验均在北半球的温带气候中进行，无法区分南北半球的实验差异，但也无法预先排除。

D.强光照射对于皮肤的损害已经得到专门研究的证实，其中夏季比起冬季的危害性更大。

E.每天六个小时的非工作状态，改变了患者原来的生活环境，改善了他们的心态，这是对抑郁患者的一种主要的影响。

【解析】

1.本题涉及知识点：

本题考查论证推理的“削弱类”。

削弱的特点是题干中给出一个完整的论证或者表达某种观点，要求从备选项中寻找到最能反驳或削弱题干的选项。

削弱题型的提问方式：

“以下哪项如果为真，最能削弱上述论证？”

“以下哪项如果为真，能够最有力地削弱上述论证的结论？”

“以下哪项如果为真，最可能削弱上述推断？”

“以下哪项如果为真，最不可能削弱上述论证的结论？”

“以下哪项如果为真，最不可能质疑上述推断？”

“以下各项都是对上述看法的质疑，除了？”

2.技巧方法：

对于削弱类论证推理，首先最重要的是找“**论点**”和“**论据**”，然后：

（1）质疑观点：

直接指出论点是不成立的

（2）割裂关系（断桥法）

其思路是指出论据无法推出论点，或者指出即使论据为真，论点也为假。具体可分为“直接割裂”和“间接割裂”，直接割裂的特征是论据和论点话题不一致，间接割裂的特征是引入新话题。

（3）质疑论据

直接指出论据不成立。

3.具体过程：

题干中的结论是“光线照射的增加是缓解冬季忧郁症的原因”。要削弱此结论，就是要指出：缓解冬季忧郁症的原因并不是光线照射的增加，而是存在着别的原因。B项讲“强光照射对于男性患者治疗的效果较为迟缓”，但毕竟还是有缓解作用，所以该项实际上是支持题干的。C项所讲的情况不影响题干的实验效果。D项讲的是强光照射对于皮肤的损害，与题干不相干。A项虽然讲了“有意使用花香伴随”，但花香也只是伴随，不能否定强光照射的根本性作用。E项强调：“每天六小时的非工作状态”是对冬季忧郁症患者的“一种主要影响”，实际上是指出了：“不是强光照射而是每天六小时的非工作状态缓解了患者的冬季忧郁症”，用“每天六个小时的非工作状态”这个根本原因否定了“强光照射”这个表面性的原因。故选E。

14.学生家长：这学期学生的视力普遍下降，这是由于学生书面作业负担过重。

校长：学生视力下降和书面作业负担没有关系，经我们调查，学生视力下降的原因，是由于他们做作业时的姿势不正确。

以下哪项如果为真，最能削弱校长的辩解？【A】

A.过重的书面作业容易使学生感到疲劳，当感到疲劳时，学生不容易保持正确的书写姿势。

B.该校学生的书面作业的负担和其他学校相比并不算重。

C.校方在纠正学生姿势以保护视力方面做了一些工作，但力度不够。

D.学生视力下降是个普遍的社会问题，不惟该校然。

E.该校学生的书面作业负担比上学年有所加重。

【解析】

1.本题涉及知识点：

本题考查论证推理的“削弱类”。

削弱的特点是题干中给出一个完整的论证或者表达某种观点，要求从备选项中寻找到最能反驳或削弱题干的选项。

削弱题型的提问方式：

“以下哪项如果为真，最能削弱上述论证？”

“以下哪项如果为真，能够最有力地削弱上述论证的结论？”

“以下哪项如果为真，最可能削弱上述推断？”

“以下哪项如果为真，最不可能削弱上述论证的结论？”

“以下哪项如果为真，最不可能质疑上述推断？”

“以下各项都是对上述看法的质疑，除了？”

2.技巧方法：

对于削弱类论证推理，首先最重要的是找“**论点**”和“**论据**”，然后：

（1）质疑观点：

直接指出论点是不成立的

（2）割裂关系（断桥法）

其思路是指出论据无法推出论点，或者指出即使论据为真，论点也为假。具体可分为“直接割裂”和“间接割裂”，直接割裂的特征是论据和论点话题不一致，间接割裂的特征是引入新话题。

（3）质疑论据

直接指出论据不成立。

3.具体过程：

A项意味着，学生做作业时的姿势不正确仅仅是表面现象，书面作业负担过重才是根本性的原因。故选A。

15.统计表明，美国亚利桑那州死于肺病的人的比例大于其他州死于肺病的人的比例，因为亚利桑那州的气候更容易引起肺病。

以下哪项最能反驳上述论证？【B】

A.气候只是引起肺病的一个因素。

B.亚利桑那州的气候对肺病有利，有肺病的人纷纷来到此州。

C.美国人通常不会一生住在一个地方。

D.没有证据证明气候对肺病有影响。

E.亚利桑那州的气候不是一成不变的。

【解析】

1.本题涉及知识点：

本题考查论证推理的“削弱类”。

削弱的特点是题干中给出一个完整的论证或者表达某种观点，要求从备选项中寻找到最能反驳或削弱题干的选项。

削弱题型的提问方式：

“以下哪项如果为真，最能削弱上述论证？”

“以下哪项如果为真，能够最有力地削弱上述论证的结论？”

“以下哪项如果为真，最可能削弱上述推断？”

“以下哪项如果为真，最不可能削弱上述论证的结论？”

“以下哪项如果为真，最不可能质疑上述推断？”

“以下各项都是对上述看法的质疑，除了？”

2.技巧方法：

对于削弱类论证推理，首先最重要的是找“**论点**”和“**论据**”，然后：

（1）质疑观点：

直接指出论点是不成立的

（2）割裂关系（断桥法）

其思路是指出论据无法推出论点，或者指出即使论据为真，论点也为假。具体可分为“直接割裂”和“间接割裂”，直接割裂的特征是论据和论点话题不一致，间接割裂的特征是引入新话题。

（3）质疑论据

直接指出论据不成立。

3.具体过程：

该项指出了亚利桑那州的气候本身并不是引起死于肺病的人的比例高的原因，真正的原因是来此治疗肺病的人非常多。故选B。

16.在改革开放的中国社会，白领阶层以其得体入时的穿着、斯文潇洒的举止，在城市中逐渐形成一种新的时尚。张金力穿着十分得体，举止也十分斯文，一定是白领阶层的一员。

下列哪项陈述最准确地指出了上述判断在逻辑上的缺陷？【B】

A.有些白领阶层的人穿着也很普通，举止并不潇洒。

B.有些穿着得体，举止斯文的人并非从事令人羡慕的白领工作。

C.穿着举止是人的爱好、习惯，也与工作性质有一定的关系。

D.张金力的穿着举止受社会时尚的影响很大。

E.白领阶层的工作性质决定了他们应当穿着得体、举止斯文。

【解析】

1.本题涉及知识点：

本题考查论证推理的“削弱类”。

削弱的特点是题干中给出一个完整的论证或者表达某种观点，要求从备选项中寻找到最能反驳或削弱题干的选项。

削弱题型的提问方式：

“以下哪项如果为真，最能削弱上述论证？”

“以下哪项如果为真，能够最有力地削弱上述论证的结论？”

“以下哪项如果为真，最可能削弱上述推断？”

“以下哪项如果为真，最不可能削弱上述论证的结论？”

“以下哪项如果为真，最不可能质疑上述推断？”

“以下各项都是对上述看法的质疑，除了？”

2.技巧方法：

对于削弱类论证推理，首先最重要的是找“**论点**”和“**论据**”，然后：

（1）质疑观点：

直接指出论点是不成立的

（2）割裂关系（断桥法）

其思路是指出论据无法推出论点，或者指出即使论据为真，论点也为假。具体可分为“直接割裂”和“间接割裂”，直接割裂的特征是论据和论点话题不一致，间接割裂的特征是引入新话题。

（3）质疑论据

直接指出论据不成立。

3.具体过程：

本题题干由“张金力穿着十分得体，举止也十分斯文”推出“一定是白领阶层的一员”。其中的假设是“所有穿着十分得体，举止也十分斯文一定是白领阶层的一员”，那么只要有一个符合条件却不是白领阶层一员就是对“所有”的否定。

17.在“非典”期间，某地区共有7名参与治疗“非典”的医务人员死亡，同时也有10名未参与“非典”治疗工作的医务人员死亡。这说明参与“非典”治疗并不比日常医务工作危险。以下哪项相关断定如果为真，最能削弱上述结论？【D】

A.因参与“非典”治疗死亡的医务人员的平均年龄，略低于未参与“非典”治疗而死亡的医务人员。

B.参与“非典”治疗的医务人员的体质，一般高于其他医务人员。

C.个别参与治疗“非典”死亡的医务人员的死因，并非是感染“非典”病毒。

D.医务人员中只有一小部分参与了“非典”治疗工作。

E.经过治疗的“非典”患者死亡人数，远低于未经治疗的“非典”患者死亡人数。

【解析】

1.本题涉及知识点：

本题考查论证推理的“削弱类”。

削弱的特点是题干中给出一个完整的论证或者表达某种观点，要求从备选项中寻找到最能反驳或削弱题干的选项。

削弱题型的提问方式：

“以下哪项如果为真，最能削弱上述论证？”

“以下哪项如果为真，能够最有力地削弱上述论证的结论？”

“以下哪项如果为真，最可能削弱上述推断？”

“以下哪项如果为真，最不可能削弱上述论证的结论？”

“以下哪项如果为真，最不可能质疑上述推断？”

“以下各项都是对上述看法的质疑，除了？”

2.技巧方法：

对于削弱类论证推理，首先最重要的是找“**论点**”和“**论据**”，然后：

（1）质疑观点：

直接指出论点是不成立的

（2）割裂关系（断桥法）

其思路是指出论据无法推出论点，或者指出即使论据为真，论点也为假。具体可分为“直接割裂”和“间接割裂”，直接割裂的特征是论据和论点话题不一致，间接割裂的特征是引入新话题。

（3）质疑论据

直接指出论据不成立。

3.具体过程：

D项说明和参与治疗“非典”的医务人员相比，未参与“非典”治疗工作的医务人员死亡人数虽然较多，但死亡率却可能明显较低，从而有力地削弱了题干的结论。注意，要说明参与“非典”治疗是否比日常医务工作危险，关键不是用医务人员死亡人数做比较，而是用死亡率作比较。B项只谈“体质”，没涉及死亡率且只有在上述两部分人数的死亡率基本相当的情况下才能削弱题干。故选D。

18.据国际卫生与保健组织1999年年会“通讯与健康”公布的调查报告显示，68%的脑癌患者都有经常使用移动电话的历史。这充分说明，经常使用移动电话将会极大地增加一个人患脑癌的可能性。

以下哪项如果为真，将最严重地削弱上述结论？【B】

A. 进入 20 世纪 80 年代以来，使用移动电话者的比例有惊人的增长。

B. 有经常使用移动电话历史的人在 1990 年到 1999 年超过世界总人口的 65%。

C. 在 1999 年全世界经常使用移动电话的人数比 1998 年增加了 68%。

D. 使用普通电话与移动电话通话同样有导致脑癌的危险。

E. 没有使用过移动电话的人数在 90 年代超过世界总人口的 50%。

【解析】

1. 本题涉及知识点：

本题考查论证推理的“削弱类”。

削弱的特点是题干中给出一个完整的论证或者表达某种观点，要求从备选项中寻找到最能反驳或削弱题干的选项。

削弱题型的提问方式：

“以下哪项如果为真，最能削弱上述论证？”

“以下哪项如果为真，能够最有力地削弱上述论证的结论？”

“以下哪项如果为真，最可能削弱上述推断？”

“以下哪项如果为真，最不可能削弱上述论证的结论？”

“以下哪项如果为真，最不可能质疑上述推断？”

“以下各项都是对上述看法的质疑，除了？”

2. 技巧方法：

对于削弱类论证推理，首先最重要的是找“**论点**”和“**论据**”，然后：

（1）质疑观点：

直接指出论点是不成立的

（2）割裂关系（断桥法）

其思路是指出论据无法推出论点，或者指出即使论据为真，论点也为假。具体可分为“直接割裂”和“间接割裂”，直接割裂的特征是论据和论点话题不一致，间接割裂的特征是引入新话题。

（3）质疑论据

直接指出论据不成立。

3. 具体过程：

题干根据：脑癌患者中有 68%的人都使用移动电话，由此得出结论：使用移动电话是导致脑癌的原因。要削弱题干，关键是要看整体情况。如果整体当中也有差不多 68%的概率甚至更大比率的人使用移动电话，这就削弱了题干。如果一般人中远远没有 68%的人使用移动电话，那就加强了题干。而 B 项中的经常使用移动电话的人口 65%的概率接近 68%，是对题干的削弱。故选 B。

19.据某国卫生部门统计显示，2018 年全国糖尿病患者中，年轻人不到 10%，中老年肥胖者为 63%。这说明，肥胖将极大地增加一个人患糖尿病的危险。

以下哪项如果为真，将严重削弱上述结论？【C】

A.医学已经证明，肥胖是心血管病的重要诱因。

B.2018 年，该国的肥胖者的人数比 2008 年增加了 70%。

C.2018 年，肥胖者在该国中老年人中所占的比例超过 60%。

D.2018 年，该国糖尿病的发病率比 2008 年降低了 20%。

E.2018 年，该国年轻人中的肥胖者所占的比例，比 2008 年提高了 30%。

【解析】

1.本题涉及知识点：

本题考查论证推理的“削弱类”。

削弱的特点是题干中给出一个完整的论证或者表达某种观点，要求从备选项中寻找到最能反驳或削弱题干的选项。

削弱题型的提问方式：

“以下哪项如果为真，最能削弱上述论证？”

“以下哪项如果为真，能够最有力地削弱上述论证的结论？”

“以下哪项如果为真，最可能削弱上述推断？”

“以下哪项如果为真，最不可能削弱上述论证的结论？”

“以下哪项如果为真，最不可能质疑上述推断？”

“以下各项都是对上述看法的质疑，除了？”

2.技巧方法：

对于削弱类论证推理，首先最重要的是找“**论点**”和“**论据**”，然后：

（1）质疑观点：

直接指出论点是不成立的

（2）割裂关系（断桥法）

其思路是指出论据无法推出论点，或者指出即使论据为真，论点也为假。具体可分为“直接割裂”和“间接割裂”，直接割裂的特征是论据和论点话题不一致，间接割裂的特征是引入新话题。

（3）质疑论据

直接指出论据不成立。

3.具体过程：

题干断定：2018 年全国糖尿病患者中，中老年肥胖者为 63%。于是，题干认为肥胖是患糖尿病的原因。C 项则指出，2018 年该国全部中老年人中肥胖者的比例超过了 60%。这就说明，该国中老年肥胖者所占的比例本来就高，肥胖并不是导致患糖尿病的原因。其他选项均不能削弱题干。故选 C。

20.某高校的李教授在网上撰文指责另一高校张教授早年发表的一篇论文存在抄袭现象。张教授知晓后，立即在同一网站对李教授的指责作出反驳。

以下哪项作为张教授的反驳最为有力？【D】

A.李教授的指责可能背后有人指使，不排除受到两校不正当竞争的影响。

B.李教授的指责是对自己不久前批评李教授学术观点所做的打击报复。

C.李教授的指责纯属栽赃陷害，混淆视听，破坏了大学教授的整体形象。

D.自己投稿在先而发表在后，所谓论文抄袭其实是他人抄自己。

E.李教授早年的两篇论文其实也存在不同程度的抄袭现象。

【解析】

1.本题涉及知识点：

本题考查论证推理的“削弱类”。

削弱的特点是题干中给出一个完整的论证或者表达某种观点，要求从备选项中寻找到最能反驳或削弱题干的选项。

削弱题型的提问方式：

“以下哪项如果为真，最能削弱上述论证？”

“以下哪项如果为真，能够最有力地削弱上述论证的结论？”

“以下哪项如果为真，最可能削弱上述推断？”

“以下哪项如果为真，最不可能削弱上述论证的结论？”

“以下哪项如果为真，最不可能质疑上述推断？”

“以下各项都是对上述看法的质疑，除了？”

2.技巧方法：

对于削弱类论证推理，首先最重要的是找“**论点**”和“**论据**”，然后：

（1）质疑观点：

直接指出论点是不成立的

（2）割裂关系（断桥法）

其思路是指出论据无法推出论点，或者指出即使论据为真，论点也为假。具体可分为“直接割裂”和“间接割裂”，直接割裂的特征是论据和论点话题不一致，间接割裂的特征是引入新话题。

（3）质疑论据

直接指出论据不成立。

3.具体过程：

本题考查论证推理——削弱。张教授需要反驳的指责是“自己早年的一篇论文存在抄袭现象”。

A、B、C、E 选项都与题干的指责无关，没有回应是否抄袭的问题，不能反驳指责的内容。

D 选项，涉及张教授的论文是否抄袭的问题，证明了并不存在抄袭问题，反驳了李教授的指责。故选 D。

21.H国赤道雨林的面积每年以惊人的比例减少，引起了全球的关注。但是，卫星照片的数据显示，去年H国赤道雨林面积的缩小比例明显低于往年。去年，H国政府支出数百万美元用以制止滥砍滥伐和防止森林火灾。H国政府宣称，以上卫星照片的数据说明，本国政府保护赤道雨林的努力取得了显著成效。

以下哪项如果为真，最能削弱H国政府的上述结论？【C】

A.去年H国用以保护赤道雨林的财政投入明显低于往年。

B.与H国毗邻的G国的赤道雨林的面积并未缩小。

C.去年H国的旱季出现了异乎寻常的大面积持续降雨。

D.H国用于雨林保护的费用只占年度财政支出的很小比例。

E.森林面积的萎缩是全球性的环保问题。

【解析】

1.本题涉及知识点：

本题考查论证推理的“削弱类”。

削弱的特点是题干中给出一个完整的论证或者表达某种观点，要求从备选项中寻找到最能反驳或削弱题干的选项。

削弱题型的提问方式：

“以下哪项如果为真，最能削弱上述论证？”

“以下哪项如果为真，能够最有力地削弱上述论证的结论？”

“以下哪项如果为真，最可能削弱上述推断？”

“以下哪项如果为真，最不可能削弱上述论证的结论？”

“以下哪项如果为真，最不可能质疑上述推断？”

“以下各项都是对上述看法的质疑，除了？”

2.技巧方法：

对于削弱类论证推理，首先最重要的是找“**论点**”和“**论据**”，然后：

（1）质疑观点：

直接指出论点是不成立的

（2）割裂关系（断桥法）

其思路是指出论据无法推出论点，或者指出即使论据为真，论点也为假。具体可分为“直接割裂”和“间接割裂”，直接割裂的特征是论据和论点话题不一致，间接割裂的特征是引入新话题。

（3）质疑论据

直接指出论据不成立。

3.具体过程：

题干由保护赤道雨林的努力取得了显著成效来证明是该国政府的财政政策起到了效果。C项指出去年H国赤道雨林面积的缩小比例明显低于往年，并不是本国政府保护赤道雨林的努力导致

的，而是由于H国的旱季出现了异乎寻常的大面积持续下雨，从而削弱了题干。故选C。

22.最近 10 年，地震、火山爆发和异常天气对人类造成的灾害比数十年前明显增多，这说明，地球正变得对人类越来越充满敌意和危险。这是人类在追求经济高速发展中因破坏生态环境而付出的代价。

以下哪项如果为真，最能削弱上述论证？【B】

A.经济发展使人类有可能运用高科技手段来减轻自然灾害的危害。

B.全球经济发展的不平衡所造成的人口膨胀和相对贫困，使得越来越多的人不得不居住在生态环境恶劣甚至危险的地区。

C.经济发展并不必然导致全球生态环境的恶化。

D.自然灾害对人类造成的危害，远低于战争、恐怖主义等人为灾难。

E.W国和H国是两个毗邻的小国，W国经济发达，H国经济落后；地震、火山爆发和异常天气所造成的灾害，在H国显然比W国严重。

【解析】

1.本题涉及知识点：

本题考查论证推理的“削弱类”。

削弱的特点是题干中给出一个完整的论证或者表达某种观点，要求从备选项中寻找到最能反驳或削弱题干的选项。

削弱题型的提问方式：

“以下哪项如果为真，最能削弱上述论证？”

“以下哪项如果为真，能够最有力地削弱上述论证的结论？”

“以下哪项如果为真，最可能削弱上述推断？”

“以下哪项如果为真，最不可能削弱上述论证的结论？”

“以下哪项如果为真，最不可能质疑上述推断？”

“以下各项都是对上述看法的质疑，除了？”

2.技巧方法：

对于削弱类论证推理，首先最重要的是找“**论点**”和“**论据**”，然后：

（1）质疑观点：

直接指出论点是不成立的

（2）割裂关系（断桥法）

其思路是指出论据无法推出论点，或者指出即使论据为真，论点也为假。具体可分为“直接割裂”和“间接割裂”，直接割裂的特征是论据和论点话题不一致，间接割裂的特征是引入新话题。

（3）质疑论据

直接指出论据不成立。

3.具体过程：

分析题干，由地震、火山爆发和异常天气近10年来对人类造成的灾害比数十年前明显增多，推出是由人类在追求经济高速发展中破坏生态环境而造成的。B项指出另有他因，是由于人口增长等客观原因使得越来越多的人不得不居住在生态环境恶劣甚至危险的地区而造成的。故选B。

23.加拿大的一位运动医学研究人员报告说，利用放松体操和机能反馈疗法，有助于对头痛进行治疗。研究人员抽选出95名慢性牵张性头痛患者和75名周期性偏头痛患者，教他们放松头部、颈部和肩部的肌肉，以及用机能反馈疗法对压力和紧张程度加以控制。其结果，前者有四分之三、后者中有一半人报告说，他们头痛的次数和剧烈程度有所下降。

以下哪项如果为真，最不能削弱上述论证的结论？【D】

A.参加者接受了高度的治疗有效的暗示，同时，对病情改善的希望亦起到推动的作用。

B.参加者有意迎合研究人员；即使不合事实，也会说感觉变好。

C.多数参加者自愿合作，虽然他们的生活状况承受着巨大的压力。在研究过程中，他们会感觉到生活压力有所减轻。

D.参加实验的人中，慢性牵张性头痛患者和周期性偏头痛患者人数选择不均等，实验设计需要进行调整。

E.放松体操和机能反馈疗法的锻炼，减少了这些头痛患者的工作时间，使得他们对于自己病情的感觉有所改善。

【解析】

1.本题涉及知识点：

本题考查论证推理的“削弱类”。

削弱的特点是题干中给出一个完整的论证或者表达某种观点，要求从备选项中寻找到最能反驳或削弱题干的选项。

削弱题型的提问方式：

“以下哪项如果为真，最能削弱上述论证？”

“以下哪项如果为真，能够最有力地削弱上述论证的结论？”

“以下哪项如果为真，最可能削弱上述推断？”

“以下哪项如果为真，最不可能削弱上述论证的结论？”

“以下哪项如果为真，最不可能质疑上述推断？”

“以下各项都是对上述看法的质疑，除了？”

2.技巧方法：

对于削弱类论证推理，首先最重要的是找“**论点**”和“**论据**”，然后：

（1）质疑观点：

直接指出论点是不成立的

（2）割裂关系（断桥法）

其思路是指出论据无法推出论点，或者指出即使论据为真，论点也为假。具体可分为“直接割裂”和“间接割裂”，直接割裂的特征是论据和论点话题不一致，间接割裂的特征是引入新话题。

（3）质疑论据

直接指出论据不成立。

3.具体过程：

题干中的结论是：“利用放松体操和机能反馈疗法，有助于对头痛进行治疗”。首先需要将能够削弱此结论的选项一一排除掉。B、C两项都说的是“参加者因为有意迎合或自愿合作而说感觉变好，其实事实并非如此”，这就说明了“利用放松体操和机能反馈疗法”并不“有助于对头痛进行治疗”。A项说是“参加者接受了高度的治疗有效的暗示以及对病情改善的希望”，而不是“利用放松体操和机能反馈疗法”使患者头痛得到缓解的。E项则说不是“放松体操和机能反馈疗法”，而是由于这种做法“减少了这些头痛患者的工作时间”才使他们感觉到病情有所改善的。因此，A、B、C、E四项都能削弱题干论证的结论。只有D项不能削弱题干论证的结论，因为“慢性牵张性头痛患者和周期性偏头痛患者人数选择不均等”并不会影响实验的科学性。故选D。

24.据S市的卫生检疫部门统计，和去年相比，今年该市肠炎患者的数量有明显的下降。权威人士认为，这是由于该市的饮用水净化工程正式投入了使用。

以下哪项最不能削弱上述权威人士的结论？【A】

A.和天然饮用水相比，S市经过净化的饮用水中缺少了几种重要的微量元素。

B.S市的饮用水净化工程在五年前动工，于前年正式投入了使用。

C.去年S市对餐饮业特别是卫生条件较差的大排档进行了严格的卫生检查和整顿。

D.由于引进了新的诊断技术，许多以前被诊断为肠炎的病案，今年被确诊为肠溃疡。

E.全国范围的统计数字显示，我国肠炎患者的数量呈明显下降的趋势。

【解析】

1.本题涉及知识点：

本题考查论证推理的“削弱类”。

削弱的特点是题干中给出一个完整的论证或者表达某种观点，要求从备选项中寻找到最能反驳或削弱题干的选项。

削弱题型的提问方式：

“以下哪项如果为真，最能削弱上述论证？”

“以下哪项如果为真，能够最有力地削弱上述论证的结论？”

“以下哪项如果为真，最可能削弱上述推断？”

“以下哪项如果为真，最不可能削弱上述论证的结论？”

“以下哪项如果为真，最不可能质疑上述推断？”

“以下各项都是对上述看法的质疑，除了？”

2.技巧方法：

对于削弱类论证推理，首先最重要的是找“**论点**”和“**论据**”，然后：

（1）质疑观点：

直接指出论点是不成立的

（2）割裂关系（断桥法）

其思路是指出论据无法推出论点，或者指出即使论据为真，论点也为假。具体可分为“直接割裂”和“间接割裂”，直接割裂的特征是论据和论点话题不一致，间接割裂的特征是引入新话题。

（3）质疑论据

直接指出论据不成立。

3.具体过程：

所谓削弱权威人士的结论就是指，不是由于饮用净化水工程正式投入了使用，而是别的原因导致该市肠炎患者的数量明显下降的。首先，E项说本来“我国肠炎患者的数量就已经普遍呈明显下降的趋势”，所以S市肠炎患者数量下降的原因并不是“饮用水净化工程正式投入了使用”，削弱了权威人士的结论。D项指出，S市肠炎患者数量明显下降的原因是引进了新的诊断技术，说明本来就没有那么多肠炎患者，从而削弱了题干。C项说明，是严格的卫生检查和整顿使该市肠炎患者的数量明显下降的。B项指出，既然饮用水净化工程于前年就已经正式投入了使用，那么去年该市的肠炎患者的数量就应该下降了，但为什么今年才明显下降呢？说明还有别的更为根本的原因在导致肠炎患者的数量下降，故削弱了题干。A项强调，经过净化的饮用水中缺乏了几种重要的微量元素，与肠炎患者数量是否减少无关，该项最不能削弱题干权威人士的结论。故选A。

25.一项对某高校教员的健康调查表明，80%的胃溃疡病患者都有夜间工作的习惯。因此，夜间工作易造成的植物神经功能紊乱是诱发胃溃疡病的重要原因。

以下哪项如果为真，将严重削弱上述论证？【D】

A.医学研究尚不能清楚揭示消化系统的疾病和神经系统的内在联系。

B.该校的胃溃疡病患者主要集中在中老年教师中。

C.该校的胃溃疡病患者近年来有上升的趋势。

D.该校只有近五分之一的教员没有夜间工作的习惯。

E.该校胃溃疡病患者中有近60%的人患有不同程度的失眠症。

【解析】

1.本题涉及知识点：

本题考查论证推理的“削弱类”。

削弱的特点是题干中给出一个完整的论证或者表达某种观点，要求从备选项中寻找到最能反驳或削弱题干的选项。

削弱题型的提问方式：

“以下哪项如果为真，最能削弱上述论证？”

“以下哪项如果为真，能够最有力地削弱上述论证的结论？”

“以下哪项如果为真，最可能削弱上述推断？”

“以下哪项如果为真，最不可能削弱上述论证的结论？”

“以下哪项如果为真，最不可能质疑上述推断？”

“以下各项都是对上述看法的质疑，除了？”

2.技巧方法：

对于削弱类论证推理，首先最重要的是找“**论点**”和“**论据**”，然后：

（1）质疑观点：

直接指出论点是不成立的

（2）割裂关系（断桥法）

其思路是指出论据无法推出论点，或者指出即使论据为真，论点也为假。具体可分为“直接割裂”和“间接割裂”，直接割裂的特征是论据和论点话题不一致，间接割裂的特征是引入新话题。

（3）质疑论据

直接指出论据不成立。

3.具体过程：

题干中用“胃溃疡病患者中的80%都有夜间工作的习惯”，来论证“夜间工作是诱发胃溃疡病的重要原因”。要削弱此论证，关键是要看一般人的情况如何。如果一般人中也是“80%都有夜间工作的习惯”，则题干中的论证就失去了依据。D项指出“该校只有近五分之一的教员没有夜间工作的习惯”，即该校教员也是“80%都有夜间工作的习惯”，这样就削弱了题干论证。A项说“医学研究尚不能清楚揭示”，并不能否认客观事实的存在。故选D。

26.赵青一定是一位出类拔萃的教练。她调到我们大学执教女排才一年，球队的成绩突飞猛进。以下哪项如果为真，最有可能削弱上述论证？【E】

A.赵青以前曾经入选过国家青年女排，后来因为伤病提前退役。

B.赵青之前的教练一直是男性，对于女运动员的运动生理和心理了解不够。

C.调到大学担任女排教练之后，赵青在学校领导那里立下了军令状，一定要拿全国大学生联赛的冠军，结果只得了一个铜牌。

D.女排队员尽管是学生，但是对于赵青教练的指导都非常佩服，并自觉地加强训练。

E.大学准备建设高水平的体育代表队，因此，从去年开始，就陆续招收一些职业队的退役队员。女排只招到了一个二传手。

【解析】

1.本题涉及知识点：

本题考查论证推理的“削弱类”。

削弱的特点是题干中给出一个完整的论证或者表达某种观点，要求从备选项中寻找到最能反驳或削弱题干的选项。

削弱题型的提问方式：

“以下哪项如果为真，最能削弱上述论证？”

“以下哪项如果为真，能够最有力地削弱上述论证的结论？”

“以下哪项如果为真，最可能削弱上述推断？”

“以下哪项如果为真，最不可能削弱上述论证的结论？”

“以下哪项如果为真，最不可能质疑上述推断？”

“以下各项都是对上述看法的质疑，除了？”

2.技巧方法：

对于削弱类论证推理，首先最重要的是找“**论点**”和“**论据**”，然后：

（1）质疑观点：

直接指出论点是不成立的

（2）割裂关系（断桥法）

其思路是指出论据无法推出论点，或者指出即使论据为真，论点也为假。具体可分为“直接割裂”和“间接割裂”，直接割裂的特征是论据和论点话题不一致，间接割裂的特征是引入新话题。

（3）质疑论据

直接指出论据不成立。

3.具体过程：

E项指出球队成绩突飞猛进的原因不是赵青教练的执教，而是招收到了一些职业队的退役队员的结果。尽管只招到了一个二传手，但也说明了这个问题。A、B、C、D四项都是讲的赵青教练的优点，说明球队的成绩突飞猛进与赵青教练有关，所以都支持了题干。故选E。

27.与去年相比，某处乡村今年被诊断患有某种肠疾的人大大减少了。卫计委官员将此完全归功于净化水厂卫生条件的改进，水变得更洁净了，也就降低了今年染上这种肠疾的概率。

以下哪项如果为真，最能削弱卫计委官员关于低患病率的解释？【C】

A.那处乡村在五年内已经修建了许多家净化水厂。

B.患与没患这种肠疾的人所喝的瓶装泉水在数量上相差不大。

C.今年，一种崭新的诊断技术将以前被误诊为患有这种肠疾的许多人确诊为患有胃溃疡。

D.由于今年医学的进步，由这种肠疾发展到更为严重的病症的人将大为减少。

E.这个乡村的用水是按邻村十年前用水的卫生标准引进的。

【解析】

1.本题涉及知识点：

本题考查论证推理的“削弱类”。

削弱的特点是题干中给出一个完整的论证或者表达某种观点，要求从备选项中寻找到最能反驳或削弱题干的选项。

削弱题型的提问方式：

“以下哪项如果为真，最能削弱上述论证？”

“以下哪项如果为真，能够最有力地削弱上述论证的结论？”

“以下哪项如果为真，最可能削弱上述推断？”

“以下哪项如果为真，最不可能削弱上述论证的结论？”

“以下哪项如果为真，最不可能质疑上述推断？”

“以下各项都是对上述看法的质疑，除了？”

2.技巧方法：

对于削弱类论证推理，首先最重要的是找“**论点**”和“**论据**”，然后：

（1）质疑观点：

直接指出论点是不成立的

（2）割裂关系（断桥法）

其思路是指出论据无法推出论点，或者指出即使论据为真，论点也为假。具体可分为“直接割裂”和“间接割裂”，直接割裂的特征是论据和论点话题不一致，间接割裂的特征是引入新话题。

（3）质疑论据

直接指出论据不成立。

3.具体过程：

题干中卫计委官员将某村今年患有某种肠疾的人数减少的原因归结为：净化水厂卫生条件的改进。C项意味着，不是净化水厂卫生条件的改进，而是一种崭新的诊断技术使得某村今年被确定为患有某种肠疾的人数减少的，削弱了题干。A项意味着是净化水厂卫生条件的改进使得某村今年患有某种肠疾的人数减少的，加强了题干。B、D、E三项为无关选项。故选C。

28.“万物生长靠太阳”，这是多少年来人们从实际生活中总结出来的一个公认的事实，然而，近年来科学家们研究发现：月球对地球的影响远远大于太阳；孕育地球生命的力量，来自月球而非太阳。

以下哪项不能作为上述论断的证据？【C】

A.在月照下，植物生长快且长得好，月照特别是对几厘米高、发芽不久的植物如向日葵、玉米等最有利。

B.当花枝因损伤出现严重伤口时，月光能清除伤口中那些不能再生长的纤维组织，加快新陈代

谢，使伤口愈合。

C.植物只有靠太阳光才能进行光合作用，动物也只有在阳光下才能茁壮成长。

D.月球在地球形成之初，影响地球产生一个巨大磁场，屏蔽来自太空的宇宙射线对地球的侵袭。

E.科学家在太平洋加拉帕戈期群岛附近的深海海底，发现并采集了红色的蠕虫，张着壳的蛤、白色的蟹等，这可能和月照有关。

【解析】

1.本题涉及知识点：

本题考查论证推理的“削弱类”。

削弱的特点是题干中给出一个完整的论证或者表达某种观点，要求从备选项中寻找到最能反驳或削弱题干的选项。

削弱题型的提问方式：

“以下哪项如果为真，最能削弱上述论证？”

“以下哪项如果为真，能够最有力地削弱上述论证的结论？”

“以下哪项如果为真，最可能削弱上述推断？”

“以下哪项如果为真，最不可能削弱上述论证的结论？”

“以下哪项如果为真，最不可能质疑上述推断？”

“以下各项都是对上述看法的质疑，除了？”

2.技巧方法：

对于削弱类论证推理，首先最重要的是找“**论点**”和“**论据**”，然后：

（1）质疑观点：

直接指出论点是不成立的

（2）割裂关系（断桥法）

其思路是指出论据无法推出论点，或者指出即使论据为真，论点也为假。具体可分为“直接割裂”和“间接割裂”，直接割裂的特征是论据和论点话题不一致，间接割裂的特征是引入新话题。

（3）质疑论据

直接指出论据不成立。

3.具体过程：

A、B、D、E四项都讲的是月球对地球的影响，只有C项讲的是太阳对生物的好处，因此C项不能作为上述论断的论据。故选C。

29.自1940年以来，全世界的离婚率不断上升。因此，目前世界上的单亲儿童，即只与生身父母中的某一位一起生活的儿童，在整个儿童中所占的比例，一定高于1940年。

以下哪项关于世界范围内相关情况的断定如果为真，最能对上述推断提出质疑？【A】

A.1940年以来，特别是70年代以来，相对和平的环境和医疗技术的发展，使中青年已婚男女

的死亡率极大地降低。

B. 1980 年以来，离婚男女中的再婚率逐年提高，但复婚率却极低。

C. 目前全世界儿童的总数，是 1940 年的两倍以上。

D. 1970 年以来，初婚夫妇的平均年龄在逐年上升。

E. 目前每对夫妇所生子女的平均数，要低于 1940 年。

【解析】

1. 本题涉及知识点：

本题考查论证推理的“削弱类”。

削弱的特点是题干中给出一个完整的论证或者表达某种观点，要求从备选项中寻找到最能反驳或削弱题干的选项。

削弱题型的提问方式：

“以下哪项如果为真，最能削弱上述论证？”

“以下哪项如果为真，能够最有力地削弱上述论证的结论？”

“以下哪项如果为真，最可能削弱上述推断？”

“以下哪项如果为真，最不可能削弱上述论证的结论？”

“以下哪项如果为真，最不可能质疑上述推断？”

“以下各项都是对上述看法的质疑，除了？”

2. 技巧方法：

对于削弱类论证推理，首先最重要的是找“**论点**”和“**论据**”，然后：

（1）质疑观点：

直接指出论点是不成立的

（2）割裂关系（断桥法）

其思路是指出论据无法推出论点，或者指出即使论据为真，论点也为假。具体可分为“直接割裂”和“间接割裂”，直接割裂的特征是论据和论点话题不一致，间接割裂的特征是引入新话题。

（3）质疑论据

直接指出论据不成立。

3. 具体过程：

题干中从 1940 年以来全世界离婚率不断上升，就推出目前世界上的单亲儿童所占的比例一定高于 1940 年，但是造成单亲儿童数量变化的原因，除了离婚率的变化外，还有战争、疾病等因素。A 项正好指出相对和平的环境和医疗技术的发展已经使得中青年已婚男女的死亡率极大地降低，因此，即使从 1940 年以来全世界离婚率不断上升，但目前世界上的单亲儿童所占的比例不一定就高于 1940 年。故选 A。

30.加利福尼亚的消费者在寻求个人贷款时可借助的银行比美国其他州少，银行间竞争的缺乏解释了为什么加利福尼亚的个人贷款利率高于美国其他地区。

以下哪项如果为真，最能削弱上述结论？【B】

A.个人贷款比银行做的其他种类贷款如住房按揭贷款风险大。

B.因为要支付相对高的工资来吸引胜任的员工，加利福尼亚的银行因为它们提供的许多服务向储户收取的费用比其他地方银行高。

C.因为加利福尼亚的银行存款和美国其他地区银行存款都受相同的保险保障，它们的安全性并不比其他地区的银行存款差。

D.加利福尼亚的消费者不能归还私人贷款的比率比美国其他地区低。

E.加利福尼亚的银行向储户支付的利率比美国其他地区的银行低，因此在加利福尼亚，吸收储户的竞争较少。

【解析】

1.本题涉及知识点：

本题考查论证推理的“削弱类”。

削弱的特点是题干中给出一个完整的论证或者表达某种观点，要求从备选项中寻找到最能反驳或削弱题干的选项。

削弱题型的提问方式：

“以下哪项如果为真，最能削弱上述论证？”

“以下哪项如果为真，能够最有力地削弱上述论证的结论？”

“以下哪项如果为真，最可能削弱上述推断？”

“以下哪项如果为真，最不可能削弱上述论证的结论？”

“以下哪项如果为真，最不可能质疑上述推断？”

“以下各项都是对上述看法的质疑，除了？”

2.技巧方法：

对于削弱类论证推理，首先最重要的是找“**论点**”和“**论据**”，然后：

（1）质疑观点：

直接指出论点是不成立的

（2）割裂关系（断桥法）

其思路是指出论据无法推出论点，或者指出即使论据为真，论点也为假。具体可分为“直接割裂”和“间接割裂”，直接割裂的特征是论据和论点话题不一致，间接割裂的特征是引入新话题。

（3）质疑论据

直接指出论据不成立。

3.具体过程：

题干指出是由于银行间的竞争导致了“加利福尼亚的消费者在寻求个人贷款时可借助的银行比

美国其他州少”。B项指出不是银行间竞争的缺乏，而是银行对所提供的许多服务收费才是加利福尼亚的个人贷款利率高于美国其他地区的真正原因。故选B。

31.在村庄东西两块玉米地中，东面的地施过磷酸钙单质肥料，西面的地则没有。结果，东面的地亩产玉米300公斤，西面的地亩产仅150公斤。因此，东面的地比西面的地产量高的原因是施用了过磷酸钙单质肥料。

以下哪项如果为真，最能削弱上述论证？【E】

A.给东面地施用的过磷酸钙是过期的肥料。

B.北面的地施用过硫酸钾单质化肥，亩产玉米220公斤。

C.每块地种植了不同种类的四种玉米。

D.两块地的田间管理无明显不同。

E.东面和西面两块地的土质不同。

【解析】

1.本题涉及知识点：

本题考查论证推理的“削弱类”。

削弱的特点是题干中给出一个完整的论证或者表达某种观点，要求从备选项中寻找到最能反驳或削弱题干的选项。

削弱题型的提问方式：

“以下哪项如果为真，最能削弱上述论证？”

“以下哪项如果为真，能够最有力地削弱上述论证的结论？”

“以下哪项如果为真，最可能削弱上述推断？”

“以下哪项如果为真，最不可能削弱上述论证的结论？”

“以下哪项如果为真，最不可能质疑上述推断？”

“以下各项都是对上述看法的质疑，除了？”

2.技巧方法：

对于削弱类论证推理，首先最重要的是找“**论点**”和“**论据**”，然后：

（1）质疑观点：

直接指出论点是不成立的

（2）割裂关系（断桥法）

其思路是指出论据无法推出论点，或者指出即使论据为真，论点也为假。具体可分为“直接割裂”和“间接割裂”，直接割裂的特征是论据和论点话题不一致，间接割裂的特征是引入新话题。

（3）质疑论据

直接指出论据不成立。

3.具体过程：

采用类比推理论证，题干通过东面的玉米地施过磷酸钙，比没有施过磷酸钙的西面的玉米地多产出 150 公斤玉米的对比来证明施过磷酸钙是多产玉米的原因。E项则指出两块地的土质不同，才是所产玉米数量不同的根本原因。故选E。

32.据调查，滨州市有 24%的家庭拥有电脑，但拥有电脑的家庭中的 12%每周编写程序 2 小时以上，23%的在 1～2 小时之间，其余的都不到 1 小时。可见，滨州市大部分购买电脑的家庭并没有充分利用他们的家庭电脑。

以下哪种说法如果为真，最能构成对上述结论的质疑？【B】

A.过多地使用电脑会对眼睛产生危害，对孕妇身体也有影响。

B.许多人购买电脑是为了娱乐或其他用途，而不是编程序。

C.在调查中，会有相当比例的被调查对象夸大他们的电脑知识。

D.使用电脑需要不断地学习与动手实践，有一个循序渐进的过程。

E.家庭电脑的普及和充分利用肯定需要一个过程，不可操之过急。

【解析】

1.本题涉及知识点：

本题考查论证推理的“削弱类”。

削弱的特点是题干中给出一个完整的论证或者表达某种观点，要求从备选项中寻找到最能反驳或削弱题干的选项。

削弱题型的提问方式：

“以下哪项如果为真，最能削弱上述论证？”

“以下哪项如果为真，能够最有力地削弱上述论证的结论？”

“以下哪项如果为真，最可能削弱上述推断？”

“以下哪项如果为真，最不可能削弱上述论证的结论？”

“以下哪项如果为真，最不可能质疑上述推断？”

“以下各项都是对上述看法的质疑，除了？”

2.技巧方法：

对于削弱类论证推理，首先最重要的是找“**论点**”和“**论据**”，然后：

（1）质疑观点：

直接指出论点是不成立的

（2）割裂关系（断桥法）

其思路是指出论据无法推出论点，或者指出即使论据为真，论点也为假。具体可分为“直接割裂”和“间接割裂”，直接割裂的特征是论据和论点话题不一致，间接割裂的特征是引入新话题。

（3）质疑论据

直接指出论据不成立。

3.具体过程：

题干中假设了一个大前提：只有用电脑来编程序，才能说明充分利用了电脑。B项正好反驳了这个大前提。故选B。

33.去年全国通货膨胀率为17%，而今年到目前为止平均为11%，由此我们可以得出这样的结论：全国通货膨胀率正呈下降趋势，明年的通货膨胀率将会更低。

以下哪项如果为真，将严重削弱上述结论？【A】

A.去年通货膨胀率大幅度上升的主要原因是全国遭受了历史罕见的严重自然灾害。

B.在发展中国家，通货膨胀率比较高是正常现象。

C.消费者对于高通货膨胀率越来越适应了。

D.政府开始把抑制通货膨胀看成是宏观控制的主要目标之一。

E.由于抑制通货膨胀，现在失业人数和居民平均收入都有所下降。

【解析】

1.本题涉及知识点：

本题考查论证推理的“削弱类”。

削弱的特点是题干中给出一个完整的论证或者表达某种观点，要求从备选项中寻找到最能反驳或削弱题干的选项。

削弱题型的提问方式：

“以下哪项如果为真，最能削弱上述论证？”

“以下哪项如果为真，能够最有力地削弱上述论证的结论？”

“以下哪项如果为真，最可能削弱上述推断？”

“以下哪项如果为真，最不可能削弱上述论证的结论？”

“以下哪项如果为真，最不可能质疑上述推断？”

“以下各项都是对上述看法的质疑，除了？”

2.技巧方法：

对于削弱类论证推理，首先最重要的是找“**论点**”和“**论据**”，然后：

（1）质疑观点：

直接指出论点是不成立的

（2）割裂关系（断桥法）

其思路是指出论据无法推出论点，或者指出即使论据为真，论点也为假。具体可分为“直接割裂”和“间接割裂”，直接割裂的特征是论据和论点话题不一致，间接割裂的特征是引入新话题。

（3）质疑论据

直接指出论据不成立。

3.具体过程：

A项指出了，去年通货膨胀率高是由全国遭受了历史罕见的严重自然灾害造成的。这种情况具有特殊性，不具有代表性，所以，今年的通货膨胀率低并不意味着明年的通货膨胀率一定会更低。其他选项均为无关选项。故选A。

34.在H国，实行死刑的州，其犯罪率要比不实行死刑的州低。因此，死刑能够减少犯罪。
以下哪项如果为真，最可能质疑上述推断？【B】
A.犯罪的少年，较之守法的少年更多出自无父亲的家庭。因此，失去父亲能够引发少年犯罪。
B.H国的法律规定了在犯罪地起诉并按其法律裁决，许多罪犯因此经常流窜犯罪。
C.在最近几年，H国民间呼吁废除死刑的力量在不断减弱，一些政治人物也已经不再像过去那样在竞选中承诺废除死刑了。
D.经过长期的跟踪研究发现，监禁在某种程度上成为酝酿进一步犯罪的温室。
E.调查结果表明：多数犯罪分子在犯罪时都曾经想过自己的行为可能会受到死刑或常年监禁的惩罚。
【解析】
1.本题涉及知识点：
本题考查论证推理的“削弱类”。
削弱的特点是题干中给出一个完整的论证或者表达某种观点，要求从备选项中寻找到最能反驳或削弱题干的选项。
削弱题型的提问方式：
“以下哪项如果为真，最能削弱上述论证？”
“以下哪项如果为真，能够最有力地削弱上述论证的结论？”
“以下哪项如果为真，最可能削弱上述推断？”
“以下哪项如果为真，最不可能削弱上述论证的结论？”
“以下哪项如果为真，最不可能质疑上述推断？”
“以下各项都是对上述看法的质疑，除了？”
2.技巧方法：
对于削弱类论证推理，首先最重要的是找“**论点**”和“**论据**”，然后：
（1）质疑观点：
直接指出论点是不成立的
（2）割裂关系（断桥法）
其思路是指出论据无法推出论点，或者指出即使论据为真，论点也为假。具体可分为“直接割裂”和“间接割裂”，直接割裂的特征是论据和论点话题不一致，间接割裂的特征是引入新话题。
（3）质疑论据
直接指出论据不成立。

3.具体过程：

题干中的论点是：死刑能够减少犯罪。B项指出，由于H国的法律规定在犯罪地起诉并按其法律裁决，于是许多罪犯经常流窜犯罪，这样死刑对罪犯根本起不到什么作用。E项意味着死刑能够减少犯罪，加强了题干。故选B。

35.随着中国经济的发展，私人轿车进入家庭，对中国人来说已不是遥远的梦想。然而，随着私家车的日益增多，将使本来就十分严重的交通紧张状况面临雪上加霜的困境，因此，中国的交通问题最终必然限制私人轿车的发展。

以下哪项如果为真，将最能驳斥上述观点？【C】

A.私人轿车的增多不是交通紧张状况加剧的主要原因。

B.应先发展交通，再发展轿车工业。

C.随着轿车进入家庭，必将带动中国交通的大发展，从来就是先有车，然后才有路。

D.在人口众多、交通不发达的中国，发展私人轿车是愚蠢的。

E.在中国只有发展公共交通和自行车才不会加剧交通紧张状况。

【解析】

1.本题涉及知识点：

本题考查论证推理的“削弱类”。

削弱的特点是题干中给出一个完整的论证或者表达某种观点，要求从备选项中寻找到最能反驳或削弱题干的选项。

削弱题型的提问方式：

“以下哪项如果为真，最能削弱上述论证？”

“以下哪项如果为真，能够最有力地削弱上述论证的结论？”

“以下哪项如果为真，最可能削弱上述推断？”

“以下哪项如果为真，最不可能削弱上述论证的结论？”

“以下哪项如果为真，最不可能质疑上述推断？”

“以下各项都是对上述看法的质疑，除了？”

2.技巧方法：

对于削弱类论证推理，首先最重要的是找“**论点**”和“**论据**”，然后：

（1）质疑观点：

直接指出论点是不成立的

（2）割裂关系（断桥法）

其思路是指出论据无法推出论点，或者指出即使论据为真，论点也为假。具体可分为“直接割裂”和“间接割裂”，直接割裂的特征是论据和论点话题不一致，间接割裂的特征是引入新话题。

（3）质疑论据

直接指出论据不成立。

3.具体过程：

题干中根据私家车的日益增多，推出中国的交通问题将限制私人轿车的发展的结论。C项意味着，私家车增多所带来的交通问题并不会限制私人轿车的发展，有效地削弱了题目中的论证关系。故选C。

36.一项拟议中的法令要求在新的住宅中安装一旦出现火情就自动触发的喷水装置。然而，一个住宅建筑商争辩说，因为超过90％的居室火灾是由住户中的人扑灭的，因此居室中的喷水装置只能稍微减轻由居室火灾引起的财产损失。

以下哪一项，如果是正确的，将最严重地削弱该住宅建筑商的论述？【E】

A.绝大多数人没有受过如何扑灭火灾的正规训练。

B.由于新的住宅在城市中可以使用的房屋中只占很小的一部分，这种新的法令在适用范围上将非常狭小。

C.在新住宅中安装烟雾探测器将比安装喷水装置的成本低很多。

D.在这个拟议该法令的城市，消防部门要求的对火灾做出反应的平均时间低于全国平均水平。

E.由居室火灾引起的财产损失中，最大的一部分是由住户中无人在家时发生的火灾造成的。

【解析】

1.本题涉及知识点：

本题考查论证推理的“削弱类”。

削弱的特点是题干中给出一个完整的论证或者表达某种观点，要求从备选项中寻找到最能反驳或削弱题干的选项。

削弱题型的提问方式：

“以下哪项如果为真，最能削弱上述论证？”

“以下哪项如果为真，能够最有力地削弱上述论证的结论？”

“以下哪项如果为真，最可能削弱上述推断？”

“以下哪项如果为真，最不可能削弱上述论证的结论？”

“以下哪项如果为真，最不可能质疑上述推断？”

“以下各项都是对上述看法的质疑，除了？”

2.技巧方法：

对于削弱类论证推理，首先最重要的是找“**论点**”和“**论据**”，然后：

（1）质疑观点：

直接指出论点是不成立的

（2）割裂关系（断桥法）

其思路是指出论据无法推出论点，或者指出即使论据为真，论点也为假。具体可分为“直接割裂”和“间接割裂”，直接割裂的特征是论据和论点话题不一致，间接割裂的特征是引入新话

题。

（3）质疑论据

直接指出论据不成立。

3.具体过程：

前提：超过90%的居室火灾是由住户中的人扑灭的。结论：居室中的喷水装置只能稍微减轻由居室火灾引起的财产损失。A选项说住户是否受过训练强调的是人的因素对于火灾的作用，而与题干论证的喷水装置对火灾的作用无关。B选项，题干强调的是喷水装置的作用，与法令的适用范围无关。C选项，安装其他装置成本更低，但是不涉及带来的财产损失的情况，不能削弱。D选项，对火灾做出反应的时间与喷水装置是否能够减少损失无关。E选项，选项直接削弱，如果最大的一部分财产损失是由住户中无人在家时发生的火灾造成的，那么自动喷水装置就能很大程度上减少财产损失。只有E选项建立了“火灾”—“财产损失”—“喷水装置”三者间的联系。故选E。

37.最近，国家新闻出版总署等八大部委联合宣布，“网络游戏防范沉迷系统”及配套的《网络游戏防范沉迷系统实名认证方案》将于今年正式实施，未成年人玩网络游戏超过5小时，经验值和收益将计为0。这一方案的实施，将有效地防止未成年人沉迷于网络游戏。

以下哪项说法如果正确，能够最有力地削弱上述结论？【D】

A.“网络游戏防范沉迷系统”的推出，意味着未成年人玩网络游戏得到了主管部门的允许，从而可以从秘密走向公开化。

B.除网络游戏外，还有单机游戏、电视机上玩的PS游戏等，“网络游戏防范沉迷系统”可能会使很多未成年玩家转向这些游戏。

C.许多未成年人只是偶尔玩玩网络游戏，“网络游戏防范沉迷系统”对他们并无作用。

D.“网络游戏防范沉迷系统”对成年人不起作用，未成年人有可能冒用成年人身份或利用网上一些生成假身份证号码的工具登录网络游戏。

E.未成年人即使不沉迷于网络游戏也会有其他事情浪费青春，很少人能做到克制自己。

【解析】

1.本题涉及知识点：

本题考查论证推理的“削弱类”。

削弱的特点是题干中给出一个完整的论证或者表达某种观点，要求从备选项中寻找到最能反驳或削弱题干的选项。

削弱题型的提问方式：

“以下哪项如果为真，最能削弱上述论证？”

“以下哪项如果为真，能够最有力地削弱上述论证的结论？”

“以下哪项如果为真，最可能削弱上述推断？”

“以下哪项如果为真，最不可能削弱上述论证的结论？”

“以下哪项如果为真，最不可能质疑上述推断？”

“以下各项都是对上述看法的质疑，除了？”

2.技巧方法：

对于削弱类论证推理，首先最重要的是找“**论点**”和“**论据**”，然后：

（1）质疑观点：

直接指出论点是不成立的

（2）割裂关系（断桥法）

其思路是指出论据无法推出论点，或者指出即使论据为真，论点也为假。具体可分为“直接割裂”和“间接割裂”，直接割裂的特征是论据和论点话题不一致，间接割裂的特征是引入新话题。

（3）质疑论据

直接指出论据不成立。

3.具体过程：

方法：实施“网络游戏防范沉迷系统”及配套的《实名认证方案》。目的：有效地防止未成年人沉迷于网络游戏。A选项，“走向公开化”更多强调的是允许玩，但是否沉迷不得而知。B选项，只要保证未成年玩家不沉迷网络游戏即可，至于是否沉迷其他游戏与目的无关。C选项，题干论证的对象是“沉迷网络游戏的未成年人”，论证“防范沉迷系统”是否能够让他们不沉迷，而选项针对的是“偶尔”玩网络游戏的未成年人。D选项说明方法无效，由于系统对成年人不起作用，未成年人可以冒用成年人身份或利用网上一些生成假身份证号码的工具登录网络游戏，这样实际上也就对未成年人不起作用了，削弱力度最强。E选项与题干中的目的无关。故选D。

38.脐带血指胎儿娩出，脐带结扎并离断后残留在胎盘和脐带中的血液，其中含有的造血干细胞对白血病、重症再生障碍性贫血、部分恶性肿瘤等疾病有显著疗效，是人生中错过就不再有的宝贵的自救资源。父母为新生儿保存脐带血，可以为孩子一生的健康提供保障。

如果以下陈述为真，除哪一项外，都能削弱上面论述的结论？【D】

A.目前中国因患血液病需要做干细胞移植的概率极小，而保存脐带血的费用昂贵。

B.目前在临床上脐带血并不是治疗许多恶性疾病的最有效手段，而是辅助治疗手段。

C.脐带血的保存量通常为50毫升，这样少的数量对大多数成年人的治疗几乎没有效果。

D.现在脐带血与外周血、骨髓一起成为造血干细胞的三大来源。

E.脐带血在保存超过5年后，其作用将很难得到保证，而往往在10年以后左右才需要用到它。

【解析】

1.本题涉及知识点：

本题考查论证推理的“削弱类”。

削弱的特点是题干中给出一个完整的论证或者表达某种观点，要求从备选项中寻找到最能反驳

或削弱题干的选项。

削弱题型的提问方式：

“以下哪项如果为真，最能削弱上述论证？”

“以下哪项如果为真，能够最有力地削弱上述论证的结论？”

“以下哪项如果为真，最可能削弱上述推断？”

“以下哪项如果为真，最不可能削弱上述论证的结论？”

“以下哪项如果为真，最不可能质疑上述推断？”

“以下各项都是对上述看法的质疑，除了？”

2.技巧方法：

对于削弱类论证推理，首先最重要的是找“**论点**”和“**论据**”，然后：

（1）质疑观点：

直接指出论点是不成立的

（2）割裂关系（断桥法）

其思路是指出论据无法推出论点，或者指出即使论据为真，论点也为假。具体可分为“直接割裂”和“间接割裂”，直接割裂的特征是论据和论点话题不一致，间接割裂的特征是引入新话题。

（3）质疑论据

直接指出论据不成立。

3.具体过程：

方法：父母为新生儿保存脐带血。目的：可以为孩子一生的健康提供保障。A选项指出保存脐带血代价高（费用昂贵），并且作用小，说明方法有缺陷，能削弱。B选项说明脐带血只是辅助治疗手段，因此没有了保存的必要，能削弱。C选项说明方法无效果，即保存的脐带血量少，不能对成年人的治疗起到作用，不能保证孩子一生的健康，能削弱。D选项强调了脐带血是造血干细胞的主要来源，说明题干的方法存在必要性，支持了题干论证。E选项说明方法无效果，不能保证孩子一生的健康，能削弱。故选D。

39.与那些不参加潜水运动的人相比，经常参加潜水运动的人一般都更健康一些。可见，潜水运动能锻炼身体，增进身体健康。

以下哪项最能对上述论证提出质疑？【E】

A.无论什么人参加潜水运动都是为了锻炼身体，增进健康。

B.锻炼身体、增进健康有许多方式，例如，参加长跑、球类运动、游泳等。

C.潜水是一项十分危险的运动，每年都有一些人在潜水运动中受伤，甚至有些人的伤势还很严重。

D.改善健康状况不是一件简单的事，需要从多方面着手进行，而且还需要一个漫长的过程。

E.身体健康状况不好的人大多不参加具有一定危险性的潜水运动。

【解析】

1.本题涉及知识点：

本题考查论证推理的“削弱类”。

削弱的特点是题干中给出一个完整的论证或者表达某种观点，要求从备选项中寻找到最能反驳或削弱题干的选项。

削弱题型的提问方式：

“以下哪项如果为真，最能削弱上述论证？”

“以下哪项如果为真，能够最有力地削弱上述论证的结论？”

“以下哪项如果为真，最可能削弱上述推断？”

“以下哪项如果为真，最不可能削弱上述论证的结论？”

“以下哪项如果为真，最不可能质疑上述推断？”

“以下各项都是对上述看法的质疑，除了？”

2.技巧方法：

对于削弱类论证推理，首先最重要的是找“**论点**”和“**论据**”，然后：

（1）质疑观点：

直接指出论点是不成立的

（2）割裂关系（断桥法）

其思路是指出论据无法推出论点，或者指出即使论据为真，论点也为假。具体可分为“直接割裂”和“间接割裂”，直接割裂的特征是论据和论点话题不一致，间接割裂的特征是引入新话题。

（3）质疑论据

直接指出论据不成立。

3.具体过程：

题干通过对经常参加潜水运动和不经常参加潜水运动的人进行比较，发现经常参加潜水运动的身体更健康。于是认为参加潜水运动是他们身体健康的原因，但问题是这很可能犯了“因果倒置”的错误，因为可能不是因为参加潜水运动才身体健康，而是因为本来就身体健康才参加潜水运动的。因为身体不太好的不敢参加有一定危险的潜水运动。注意，C项，因为该项说的是参加潜水运动的人每年都有一些在运动中受伤，但这并不能否定参加潜水运动能够增进身体健康的结论。B项也不能削弱题干，因为其他运动方式虽然也能增进身体健康，但并不能否定参加潜水运动能够增进身体健康这个结论。故选E。

40.某保险公司近来的一项研究表明，那些在舒适环境里工作的人比在不舒适环境里工作的人生产效率高25%。评价工作绩效的客观标准包括承办案件数和案件的复杂性。这表明：日益改善的工作环境可以提高工人的生产率。

以下哪项如果为真，最能削弱以上结论？【C】

A.平均来说，生产率低的员工每天在工作场所的时间比生产率高的员工要少。

B.舒适的环境比不舒适的环境更能激励员工努力工作。

C.生产率高的员工通常得到舒适的工作环境作为酬劳。

D.生产率高的员工不会比生产率低的员工工作时间长。

E.在拥挤、不舒适的环境中，同事的压力妨碍员工的工作。

【解析】

1.本题涉及知识点：

本题考查论证推理的“削弱类”。

削弱的特点是题干中给出一个完整的论证或者表达某种观点，要求从备选项中寻找到最能反驳或削弱题干的选项。

削弱题型的提问方式：

“以下哪项如果为真，最能削弱上述论证？”

“以下哪项如果为真，能够最有力地削弱上述论证的结论？”

“以下哪项如果为真，最可能削弱上述推断？”

“以下哪项如果为真，最不可能削弱上述论证的结论？”

“以下哪项如果为真，最不可能质疑上述推断？”

“以下各项都是对上述看法的质疑，除了？”

2.技巧方法：

对于削弱类论证推理，首先最重要的是找“**论点**”和“**论据**”，然后：

（1）质疑观点：

直接指出论点是不成立的

（2）割裂关系（断桥法）

其思路是指出论据无法推出论点，或者指出即使论据为真，论点也为假。具体可分为“直接割裂”和“间接割裂”，直接割裂的特征是论据和论点话题不一致，间接割裂的特征是引入新话题。

（3）质疑论据

直接指出论据不成立。

3.具体过程：

题干中根据一项研究的结果“那些在舒适环境里工作的人比在不舒适环境里工作的人生产效率高25%”，就推出结论“日益改善的工作环境可以提高工人的生产率”，即“日益改善的工作环境”是原因，“提高工人的生产率”是结果；C项则把“生产率高的员工”作为原因，把“得到舒适的工作环境”作为结果；如果C项为真，则题干中的结论就犯了“因果倒置”的错误。B、E两项支持题干中的结论，A、D两项则与题干无关。故选C。

加强论证、原因解释

1.对常兴市23家老人院的一项评估显示，爱慈老人院在疾病治疗水平方面受到的评价相当低，而在其他不少方面评价不错。虽然各老人院的规模大致相当，但爱慈老人院的医生与住院老人的比率在常兴市的老人院中几乎是最小的。因此，医生数量不足是造成爱慈老人院在疾病治疗水平方面评价偏低的原因。

以下哪项如果为真，最能加强上述论证？【B】

A.和祥老人院也在常兴市，对其疾病治疗水平的评价比爱慈老人院还要低。

B.爱慈老人院的医务护理人员比常兴市其他老人院都要多。

C.爱慈老人院的医生发表的相关学术文章很少。

D.爱慈老人院位于常兴市的市郊。

E.爱慈老人院某些医生的医术一般。

【解析】

1.本题涉及知识点：

本题考查论证推理的“加强类”。

支持是在题干中给出一个推理或论证，但由于前提的条件不足以推出结论，或者由于论证的论据不足以得出其论题，因此需要用某个选项去补充其前提或论据，使推理或论证成立的可能性增大。

支持题型的提问方式：

“以下哪项如果为真，最能加强上述断定？”

“下述哪项如果为真，最能支持上述观点？”

“下述哪项如果为真，最能支持上述论证？”

2.技巧方法：

对于加强类论证推理，首先最重要的是找“**论点**”和“**论据**”，然后：

（1）加强观点：

直接证明论点是成立的

（2）建立联系（搭桥）

其基本思路即证明论据可以推出论点，具体可分为“直接搭桥”和“间接搭桥”，直接搭桥的特点是话题词与题干高度一致；间接搭桥的特点是话题词和题干不完全一致。

（3）支持论据

直接证明论据是成立的。

3.具体过程：

题干论点是：医生数量不足是造成爱慈老人院在疾病治疗水平方面评价偏低的原因，B项指出了不是医务护理人员不足的原因，意味着医生数量不足更可能成为原因。A项不能加强题干，

因为该项是针对题干的结果，而不是针对原因。故选 B。

2.经 A 省的防疫部门检测，在该省境内接受检疫的长尾猴中，有 1%感染上了狂犬病。但是只有与人及其宠物有接触的长尾猴才接受检疫。防疫部门的专家因此推测，该省长尾猴中感染狂犬病的比例，将大大小于 1%。

以下哪项如果为真，将最有力地支持专家的推测？【E】

A.在 A 省境内，与人及其宠物有接触的长尾猴，只占长尾猴总数的 10%。

B.在 A 省，感染狂犬病的宠物，约占宠物总数的 0.1%。

C.在与 A 省毗连的 B 省境内，至今没有关于长尾猴感染狂犬病的疫情报告。

D.与和人的接触相比，健康的长尾猴更愿意与人的宠物接触。

E.与健康的长尾猴相比，感染有狂犬病的长尾猴更愿意与人及其宠物接触。

【解析】

1.本题涉及知识点：

本题考查论证推理的“加强类”。

支持是在题干中给出一个推理或论证，但由于前提的条件不足以推出结论，或者由于论证的论据不足以得出其论题，因此需要用某个选项去补充其前提或论据，使推理或论证成立的可能性增大。

支持题型的提问方式：

“以下哪项如果为真，最能加强上述断定？”

“下述哪项如果为真，最能支持上述观点？”

“下述哪项如果为真，最能支持上述论证？”

2.技巧方法：

对于加强类论证推理，首先最重要的是找“**论点**”和“**论据**”，然后：

（1）加强观点：

直接证明论点是成立的

（2）建立联系（搭桥）

其基本思路即证明论据可以推出论点，具体可分为“直接搭桥”和“间接搭桥”，直接搭桥的特点是话题词与题干高度一致；间接搭桥的特点是话题词和题干不完全一致。

（3）支持论据

直接证明论据是成立的。

3.具体过程：

题干中专家从 A 省境内与人及宠物接触的接受检疫的长尾猴中有 1%感染上了狂犬病，推测出该省长尾猴中感染狂犬病的长尾猴的比例将大大小于 1%。这里，关键还要看该省没有接受检疫的长尾猴中感染狂犬病的情况如何。如果没有接受检疫的长尾猴感染狂犬病的概率远远小于 1%，则支持了题干专家的推测。E 项说“感染狂犬病的长尾猴比健康的长尾猴更愿意与人及其

宠物接触”，说明没有与人及其宠物接触的长尾猴是健康的长尾猴，所以该省没有接受检疫的长尾猴是健康的长尾猴，加强了题干。A 项意味着，至少还有 90%的长尾猴没有接受检疫，情况如何还不清楚，无法加强题干。B 项与题干论证没有关联，属于无关选项，C 项用 B 省的情况类推出 A 省的情况，属于不当类比，不能支持专家的推测。D 项削弱了题干。故选 E。

3.在塞普西路斯的一个古城蒙科云，发掘出了城市残骸，这一残骸呈现出被地震损坏的典型特征。考古学家猜想，该城的破坏是这个地区公元 365 年的一次地震所致。

以下哪项如果为真，最能支持上述考古学家的猜想？【B】

A.通常出现在公元 365 年前后的墓穴里的青铜制纪念花瓶，在蒙科云城也发现了。

B.在蒙科云城废墟里没有发现公元 365 年以后的铸币，但是却有 365 年前的铸币。

C.多数现代塞普西路斯历史学家曾经提及，在公元 365 年前后在附近发生过地震。

D.在蒙科云城废墟中发现了公元 300-400 年风格的雕塑。

E.在蒙科云城发现了塞普西路斯 365 年以后才使用的希腊字母的石刻。

【解析】

1.本题涉及知识点：

本题考查论证推理的“加强类”。

支持是在题干中给出一个推理或论证，但由于前提的条件不足以推出结论，或者由于论证的论据不足以得出其论题，因此需要用某个选项去补充其前提或论据，使推理或论证成立的可能性增大。

支持题型的提问方式：

“以下哪项如果为真，最能加强上述断定？”

“下述哪项如果为真，最能支持上述观点？”

“下述哪项如果为真，最能支持上述论证？”

2.技巧方法：

对于加强类论证推理，首先最重要的是找“**论点**”和“**论据**”，然后：

（1）加强观点：

直接证明论点是成立的

（2）建立联系（搭桥）

其基本思路即证明论据可以推出论点，具体可分为“直接搭桥”和“间接搭桥”，直接搭桥的特点是话题词与题干高度一致；间接搭桥的特点是话题词和题干不完全一致。

（3）支持论据

直接证明论据是成立的。

3.具体过程：

题干根据在古城中发掘城市残骸，得出了古城的破坏是公元 365 年的一次地震所致。B 项意味着题干的结论是正确的。故选 B。

4.十年前癌症病人在发现疾病后平均生存 5.4 年，现在已经达到 6.7 年。这说明，治疗水平的提高使癌症病人存活的时间延长了。

上述结论依赖于下述哪一假设？【C】

A.十年前接受治疗的病人数目与现在相近。

B.十年前购买医疗保险的人不如现在多。

C.十年前癌症诊断技术水平与现在相近。

D.十年来癌症病人的职业类型没有什么变化。

E.不同类型的癌症病人存活时间差别不大。

【解析】

1.本题涉及知识点：

本题考查论证推理的“加强类”。

支持是在题干中给出一个推理或论证，但由于前提的条件不足以推出结论，或者由于论证的论据不足以得出其论题，因此需要用某个选项去补充其前提或论据，使推理或论证成立的可能性增大。

支持题型的提问方式：

“以下哪项如果为真，最能加强上述断定？”

“下述哪项如果为真，最能支持上述观点？”

“下述哪项如果为真，最能支持上述论证？”

2.技巧方法：

对于加强类论证推理，首先最重要的是找“**论点**”和“**论据**”，然后：

（1）加强观点：

直接证明论点是成立的

（2）建立联系（搭桥）

其基本思路即证明论据可以推出论点，具体可分为“直接搭桥”和“间接搭桥”，直接搭桥的特点是话题词与题干高度一致；间接搭桥的特点是话题词和题干不完全一致。

（3）支持论据

直接证明论据是成立的。

3.具体过程：

如果十年前癌症诊断技术水平远远不如现在高，那么将说明不是治疗水平的提高，而是诊断技术水平的提高，使得癌症被提前发现。故选 C。

5.自从 20 世纪中叶化学工业在世界范围内成为一个产业以来，人们一直担心，它所造成的污染将会严重影响人类的健康。但统计数据表明，近半个世纪以来，化学工业发达的工业化国家的人均寿命增长率，大大高于化学工业不发达的发展中国家。因此，人们关于化学工业危害人类健康的担心是多余的。

以下哪项是上述论证必须假设的？【C】

A.20 世纪中叶，发展中国家的人均寿命，低于发达国家。

B.如果出现发达的化学工业，发展中国家的人均寿命增长率不会因此更低。

C.如果不出现发达的化学工业，发达国家的人均寿命增长率不会因此更高。

D.化学工业带来的污染与它带给人类的巨大效益相比是微不足道的。

E.发达国家在治理化学工业污染方面投入巨大，效果明显。

【解析】

1.本题涉及知识点：

本题考查论证推理的“加强类”。

支持是在题干中给出一个推理或论证，但由于前提的条件不足以推出结论，或者由于论证的论据不足以得出其论题，因此需要用某个选项去补充其前提或论据，使推理或论证成立的可能性增大。

支持题型的提问方式：

“以下哪项如果为真，最能加强上述断定？”

“下述哪项如果为真，最能支持上述观点？”

“下述哪项如果为真，最能支持上述论证？”

2.技巧方法：

对于加强类论证推理，首先最重要的是找“**论点**”和“**论据**”，然后：

（1）加强观点：

直接证明论点是成立的

（2）建立联系（搭桥）

其基本思路即证明论据可以推出论点，具体可分为“直接搭桥”和“间接搭桥”，直接搭桥的特点是话题词与题干高度一致；间接搭桥的特点是话题词和题干不完全一致。

（3）支持论据

直接证明论据是成立的。

3.具体过程：

如果该项为假，即没有发达的化学工业，发达国家的人均寿命增长率也会因此更高，那么就不能根据化学工业发达的工业化国家的人均寿命增长率，大大高于化学工业不发达的发展中国家，就得出化学工业并不危害人类健康的结论。故选 C。

6.蚂蚁在从蚁穴回到食物源的途中，会留下一种称为信息素的化学物质。蚂蚁根据信息素的气味，来回于蚁穴和食物源之间，把食物运回蚁穴。当气温达到 45 摄氏度以上，这种信息素几乎都会不留痕迹地蒸发。撒哈拉沙漠下午的气温都在 45 摄氏度以上。

如果上述断定为真，最能支持以下哪项结论？【C】

A.蚂蚁只在上午或晚上觅食。

B.蚂蚁无法在撒哈拉沙漠存活。

C.在撒哈拉沙漠存活的蚂蚁，如果不在上午或晚上觅食，那么一定不是依靠信息素气味的引导把食物运回蚁穴。

D.如果蚂蚁不是依靠信息素的引导把食物运回蚁穴，那么一定依靠另一种物质，这种物质在气温达到 45 摄氏度以上时不会蒸发。

E.蚂蚁具有耐高温的生存能力。

【解析】

1.本题涉及知识点：

本题考查论证推理的“加强类”。

支持是在题干中给出一个推理或论证，但由于前提的条件不足以推出结论，或者由于论证的论据不足以得出其论题，因此需要用某个选项去补充其前提或论据，使推理或论证成立的可能性增大。

支持题型的提问方式：

“以下哪项如果为真，最能加强上述断定？”

“下述哪项如果为真，最能支持上述观点？”

“下述哪项如果为真，最能支持上述论证？”

2.技巧方法：

对于加强类论证推理，首先最重要的是找“**论点**”和“**论据**”，然后：

（1）加强观点：

直接证明论点是成立的

（2）建立联系（搭桥）

其基本思路即证明论据可以推出论点，具体可分为“直接搭桥”和“间接搭桥”，直接搭桥的特点是话题词与题干高度一致；间接搭桥的特点是话题词和题干不完全一致。

（3）支持论据

直接证明论据是成立的。

3.具体过程：

本题考查语义分析。题干最后一句话讲的是撒哈拉沙漠的情况，作为结论来说最好要体现题干最后一句话的意思，即最好要讲到撒哈拉沙漠。A、D、E 三项都没有讲到撒哈拉沙漠，都不大适合做题干的结论。B 项虽然讲到了撒哈拉沙漠，但太绝对，也不适合做题干的结论。所以，最适合做题干结论只有 C 项了，即在撒哈拉沙漠存活的蚂蚁，如果不在上午或晚上觅食，那么一定不是依靠信息素气味的引导把食物运回蚁穴。因为如果在撒哈拉沙漠存活的蚂蚁不在上午或晚上觅食，就只有在下午出来觅食，但撒哈拉沙漠下午的气温要达到 45 摄氏度以上，这种信息素几乎都会不留痕迹地蒸发。所以，这时蚂蚁肯定不是依靠信息素气味的引导而是靠别的途径来传导信息从而将食物运回蚁穴的。故选 C。

7.对荣丰县33所民办小学的一项评估显示，溪西小学在教学质量水平方面受到的评价相当低，而在其他不少方面评价不错。虽然各民办小学的规模大致相当，但溪西小学的老师与在读学生的比率在荣丰县的民办小学中几乎是最小的。因此，老师数量不足是造成溪西小学在教学质量水平方面评价偏低的原因。

以下哪项如果为真，最能加强上述论证？【B】

A.和祥小学也在荣丰县，对其教学质量水平的评价比溪西小学还要低。

B.溪西小学的助教老师比荣丰县其他民办小学都要多。

C.溪西小学的老师发表的相关学术文章很少。

D.溪西小学位于荣丰县的市郊。

E.溪西小学某些老师的教学能力一般。

【解析】

1.本题涉及知识点：

本题考查论证推理的“加强类”。

支持是在题干中给出一个推理或论证，但由于前提的条件不足以推出结论，或者由于论证的论据不足以得出其论题，因此需要用某个选项去补充其前提或论据，使推理或论证成立的可能性增大。

支持题型的提问方式：

“以下哪项如果为真，最能加强上述断定？”

“下述哪项如果为真，最能支持上述观点？”

“下述哪项如果为真，最能支持上述论证？”

2.技巧方法：

对于加强类论证推理，首先最重要的是找“**论点**”和“**论据**”，然后：

（1）加强观点：

直接证明论点是成立的

（2）建立联系（搭桥）

其基本思路即证明论据可以推出论点，具体可分为“直接搭桥”和“间接搭桥”，直接搭桥的特点是话题词与题干高度一致；间接搭桥的特点是话题词和题干不完全一致。

（3）支持论据

直接证明论据是成立的。

3.具体过程：

题干论点是：老师数量不足是造成溪西小学在教学质量水平方面评价偏低的原因，B项指出了不是助教老师不足的原因，意味着老师数量不足更可能是原因。A项不能加强题干，因为该项是针对题干的结果，而不是针对原因。故选B。

8.一项调查显示：79.8%的糖尿病患者对血糖监测的重要性认识不足，即使在进行血糖监测的患者中仍然有62.2%的人对血糖监测的时间和频率缺乏正确的认知；73.6%的患者不了解血糖控制的目标，这组数据足以表明目前我国血糖监测应用现状不尽如人意。有专家表示，近八成的糖尿病患者不重视血糖监测，这说明大部分患者还不知道应该如何管理糖尿病。

以下哪项如果为真，则最能支持上述专家的观点？【C】

A.如果不监测血糖，就不知道自身血糖水平是高还是低，从而使饮食、锻炼、治疗方面的努力变成徒劳。

B.血糖监测是糖尿病综合治疗中的重要环节。

C.除非重视血糖监测，否则不能对糖尿病进行科学有效的管理。

D.除非不重视血糖监测，否则就能对糖尿病进行科学有效的管理。

E.血糖监测是发现糖尿病的基础。

【解析】

1.本题涉及知识点：

本题考查论证推理的“加强类”。

支持是在题干中给出一个推理或论证，但由于前提的条件不足以推出结论，或者由于论证的论据不足以得出其论题，因此需要用某个选项去补充其前提或论据，使推理或论证成立的可能性增大。

支持题型的提问方式：

“以下哪项如果为真，最能加强上述断定？”

“下述哪项如果为真，最能支持上述观点？”

“下述哪项如果为真，最能支持上述论证？”

2.技巧方法：

对于加强类论证推理，首先最重要的是找“**论点**”和“**论据**”，然后：

（1）加强观点：

直接证明论点是成立的

（2）建立联系（搭桥）

其基本思路即证明论据可以推出论点，具体可分为“直接搭桥”和“间接搭桥”，直接搭桥的特点是话题词与题干高度一致；间接搭桥的特点是话题词和题干不完全一致。

（3）支持论据

直接证明论据是成立的。

3.具体过程：

专家：近八成的糖尿病患者不重视血糖监测➞大部分患者还不知道应该如何管理糖尿病。题干论据的话题是“不重视血糖监测”，论点的话题是“不知道应该如何管理糖尿病”，二者不一致，故此题为拆桥搭桥模型。

A、B、E项均说明了血糖监测的好处，但均不涉及“管理”糖尿病，故支持力度弱。

C 项，不重视血糖监测→不能对糖尿病进行科学有效的管理，故 C 项若为真，专家的意见一定为真，是最强的支持。

D 项，重视血糖监测→能对糖尿病进行科学有效的管理，题干中“重视血糖监测”是必要条件，而此项是充分条件，故不能支持题干。

故选 C。

9.建筑历史学家丹尼斯教授对 19 世纪早期铺有木地板的房子进行了研究。结果发现较大的房间铺设的木板条比较小房间的木板条窄得多。丹尼斯教授认为，既然大房子的主人一般都比小房子的主人富有，那么窄木条铺地板很可能是当时有地位的象征，用以表明房主的富有。

以下哪项如果为真，最能加强丹尼斯教授的观点？【C】

A.欧洲 19 世纪晚期的大多数房子所铺设的木地板的宽度大致相同。

B.丹尼斯教授的学术地位得到了国际建筑历史学界的公认。

C.欧洲 19 世纪早期，木地板条的价格是以长度为标准计算的。

D.欧洲 19 世纪早期，有些大房子铺设的是比木地板昂贵得多的大理石。

E.在以欧洲 19 世纪市民生活为背景的小说《雾都十三夜》中，富商查理的别墅中铺设的就是有别于民间的细条胡桃木地板。

【解析】

1.本题涉及知识点：

本题考查论证推理的“加强类”。

支持是在题干中给出一个推理或论证，但由于前提的条件不足以推出结论，或者由于论证的论据不足以得出其论题，因此需要用某个选项去补充其前提或论据，使推理或论证成立的可能性增大。

支持题型的提问方式：

“以下哪项如果为真，最能加强上述断定？”

“下述哪项如果为真，最能支持上述观点？”

“下述哪项如果为真，最能支持上述论证？”

2.技巧方法：

对于加强类论证推理，首先最重要的是找“**论点**”和“**论据**”，然后：

（1）加强观点：

直接证明论点是成立的

（2）建立联系（搭桥）

其基本思路即证明论据可以推出论点，具体可分为“直接搭桥”和“间接搭桥”，直接搭桥的特点是话题词与题干高度一致；间接搭桥的特点是话题词和题干不完全一致。

（3）支持论据

直接证明论据是成立的。

3.具体过程：

C 项意味着，欧洲 19 世纪早期，木地板条的价格以长度为标准计算，不以宽度为标准计算，这样，因为较大的房间铺设的木板条比较小房间的木板条窄得多，所以，较大房间就需要更多的木板条来铺设，需要花费更多的钱，也就说明了大房间房主的富有。A 项说的是欧洲 19 世纪晚期，为无关选项。B 项犯有“诉诸权威”的逻辑错误。D 项为无关选项。E 项很可能仅仅是个别的特殊情况。故选 C。

10.陈先生：昨天我驾车时被警察出具罚款单，理由是我超速。警察这样做是不公正的。我敢肯定，当时我看到很多车都超速，为什么受罚的只有我一个？

贾女士：你并没有受到不公正的对待，因为警察当时不可能制止所有的超速汽车。事实上，当时每个超速驾驶的人都同样可能被出具罚单。

确定以下哪项原则，最能支持贾女士的观点？【E】

A.任何处罚的公正性，只能是相对的，不是绝对的。绝对公正的处罚，是一种理想化的标准，不具有可操作性。

B.对违反交通规则的处罚不是一种目的，而是一种手段。

C.违反交通规则的处罚对象，应当是所有违反交通规则的人。

D.任何处罚，只要有法规依据，就是公正的。

E.如果每个违反交通规则的人被处罚的可能性均等，那么，对其中任何一个人的处罚都是公正的。

【解析】

1.本题涉及知识点：

本题考查论证推理的“加强类”。

支持是在题干中给出一个推理或论证，但由于前提的条件不足以推出结论，或者由于论证的论据不足以得出其论题，因此需要用某个选项去补充其前提或论据，使推理或论证成立的可能性增大。

支持题型的提问方式：

“以下哪项如果为真，最能加强上述断定？”

“下述哪项如果为真，最能支持上述观点？”

“下述哪项如果为真，最能支持上述论证？”

2.技巧方法：

对于加强类论证推理，首先最重要的是找“**论点**”和“**论据**”，然后：

（1）加强观点：

直接证明论点是成立的

（2）建立联系（搭桥）

其基本思路即证明论据可以推出论点，具体可分为“直接搭桥”和“间接搭桥”，直接搭桥的

特点是话题词与题干高度一致；间接搭桥的特点是话题词和题干不完全一致。

（3）支持论据

直接证明论据是成立的。

3.具体过程：

A、C 两项加强了陈先生的意见。B 项属于无关项。题干中陈先生想表达的是警察在超速的司机当中只处罚他一个人是不公平的，而 D 项说的是超速罚款的交通规则不公平，D 项犯了偷换概念的逻辑错误。E 项如果为真，则说明交通处罚是否为公正的标准，每个违反交通规则的人被处罚的可能性是否均等，这就有力地削弱了陈先生的意见，同时也就加强了贾女士的观点。故选 E。

11.研究人员利用欧洲同步辐射加速器的 X 光技术，对一块藏身于距今 9500 万年的古岩石中的真足蛇化石进行了扫描。结果发现，这种蛇与现代的陆生蜥蜴十分类似，这一成果有助于揭开蛇的起源之谜。

研究报告指出，这种蛇身长 50 厘米，从表面上看只有一只脚，长约 2 厘米，X 光扫描发现了这只真足蛇的另一只脚。这只脚之所以不易被察觉，是因为它在岩石中发生了异化，其脚踝部分仅有 4 块骨头，而且没有脚趾，这说明真足蛇的足部在当时已呈现出退化的趋势。

以下哪项如果为真，最能支持上述学者的观点？【B】

A.这只真足蛇所处的年代正好是蛇类从无足动物向有足蜥蜴进化的时期。

B.这只真足蛇所处的年代正好是蛇类从有足动物向无足动物进化的时期。

C.这只真足蛇所处的年代正好是蛇类从无足动物向有足蜥蜴退化的时期。

D.这只真足蛇所处的年代正好是蛇类从有足动物向无足动物退化的时期。

E.这只真足蛇所处的年代正好是蛇类从有足蛇向无足蛇退化的时期。

【解析】

1.本题涉及知识点：

本题考查论证推理的“加强类”。

支持是在题干中给出一个推理或论证，但由于前提的条件不足以推出结论，或者由于论证的论据不足以得出其论题，因此需要用某个选项去补充其前提或论据，使推理或论证成立的可能性增大。

支持题型的提问方式：

“以下哪项如果为真，最能加强上述断定？”

“下述哪项如果为真，最能支持上述观点？”

“下述哪项如果为真，最能支持上述论证？”

2.技巧方法：

对于加强类论证推理，首先最重要的是找“**论点**”和“**论据**”，然后：

（1）加强观点：

直接证明论点是成立的

（2）建立联系（搭桥）

其基本思路即证明论据可以推出论点，具体可分为“直接搭桥”和“间接搭桥”，直接搭桥的特点是话题词与题干高度一致；间接搭桥的特点是话题词和题干不完全一致。

（3）支持论据

直接证明论据是成立的。

3.具体过程：

题干中学者的观点是：真足蛇与现代的陆生蜥蜴十分类似这一认识成果有助于揭开蛇的起源之谜。B 项指出，这只真足蛇所处的年代正好是蛇类从有足动物向无足动物进化的时期，正好加强了上述观点。D 选项，因为足部退化并不意味着动物也退化，恰恰是动物在进化。故选 B。

12.在两座“甲”字形大墓与圆形夯土台基之间，集中发现了 5 座马坑和一座长方形的车马坑。其中两座马坑各葬 6 匹马。一座坑内骨架分南北两排摆放整齐，前排 2 匹，后排 4 匹，由西向东依序摆放；另一座坑内马骨架摆放方式特殊，6 匹马两两成对或相背放置，头向不一，比较特殊的现象是在马坑的中间还放置了一个牛角，据此推测该马坑可能和祭祀有关。

以下哪项如果为真，最能支持上述推测？【D】

A.牛角是古代祭祀时的重要物件。

B.祭祀时殉葬的马匹必须头向一致基本形制。

C.6 匹马是古代王公祭祀时的一种基本形制。

D.只有在祭祀时，才在马坑中放置牛角。

E.如果马骨摆放的比较杂乱，那一定是由祭祀时混乱的场面造成的。

【解析】1.本题涉及知识点：

本题考查论证推理的“加强类”。

支持是在题干中给出一个推理或论证，但由于前提的条件不足以推出结论，或者由于论证的论据不足以得出其论题，因此需要用某个选项去补充其前提或论据，使推理或论证成立的可能性增大。

支持题型的提问方式：

“以下哪项如果为真，最能加强上述断定？”

“下述哪项如果为真，最能支持上述观点？”

“下述哪项如果为真，最能支持上述论证？”

2.技巧方法：

对于加强类论证推理，首先最重要的是找“**论点**”和“**论据**”，然后：

（1）加强观点：

直接证明论点是成立的

（2）建立联系（搭桥）

其基本思路即证明论据可以推出论点，具体可分为“直接搭桥”和“间接搭桥”，直接搭桥的特点是话题词与题干高度一致；间接搭桥的特点是话题词和题干不完全一致。

（3）支持论据

直接证明论据是成立的。

3.具体过程：

如果D项为真，即“只有在祭祀时，才在马坑中放置牛角”，根据必要条件假言推理肯定后件就要肯定前件的正确推理形式，即可从“在马坑的中间还放置了一个牛角”，推出结论“该马坑可能和祭祀有关”。故选D。

13.土卫二是太阳系中迄今观测到存在地质喷发活动的3个星体之一，也是天体生物学最重要的研究对象之一。德国科学家借助卡西尼号土星探测器上的分析仪器发现，土卫二发射的微粒中含有钠盐。据此可以推测，土卫二存在液态水，甚至可能存在“地下海”。

以下哪项如果为真，最能支持上述推测？【E】

A.只有存在“地下海”，才可能存在地质喷发活动。

B.在土卫二上液态水不可能单独存在，只能以“地下海”的方式存在。

C.如果没有地质喷发活动，就不可能发现钠盐。

D.土星探测器上的分析仪器得出的数据是确切可信的。

E.只有存在液态水，才可能存在钠盐微粒。

【解析】

1.本题涉及知识点：

本题考查论证推理的“加强类”。

支持是在题干中给出一个推理或论证，但由于前提的条件不足以推出结论，或者由于论证的论据不足以得出其论题，因此需要用某个选项去补充其前提或论据，使推理或论证成立的可能性增大。

支持题型的提问方式：

“以下哪项如果为真，最能加强上述断定？”

“下述哪项如果为真，最能支持上述观点？”

“下述哪项如果为真，最能支持上述论证？”

2.技巧方法：

对于加强类论证推理，首先最重要的是找“**论点**”和“**论据**”，然后：

（1）加强观点：

直接证明论点是成立的

（2）建立联系（搭桥）

其基本思路即证明论据可以推出论点，具体可分为“直接搭桥”和“间接搭桥”，直接搭桥的特点是话题词与题干高度一致；间接搭桥的特点是话题词和题干不完全一致。

（3）支持论据

直接证明论据是成立的。

3.具体过程：

如果E项为真，即“只有存在液态水，才可能存在钠盐微粒”，根据必要条件假言推理肯定后件就要肯定前件的正确推理形式，即可从“土卫二发射的微粒中含有钠盐”推出结论“土卫二存在液态水”。故选E。

14.有着悠久历史的肯尼亚国家自然公园以野生动物在其中自由出没而著称。在这个公园中，已经有10多年没有出现灰狼了。最近，公园的董事会决定引进灰狼。董事会认为，灰狼不会对游客造成危害，因为灰狼的习性是避免与人接触的；灰狼也不会对公园中的其他野生动物造成危害，因为公园为灰狼准备了足够的家畜如山羊、兔子等作为食物。

以下各项如果为真，都能加强题干中董事会的论证，除了：【A】

A.作为灰狼食物的山羊兔子等，和野生动物一样在公园中自由出没，这增加了公园的自然气息和游客的乐趣。

B.灰狼在进入公园前将经过严格的检疫，事实证明，只有患有狂犬病的灰狼才会主动攻击人。

C.自然公园中，游客通常坐在汽车中游览，不会遭到野兽的直接攻击。

D.麋鹿是一种反应极其敏捷的野生动物。灰狼在公园中对麋鹿的捕食将减少其中的不良个体，从总体上有利于麋鹿的优化繁衍。

E.公园有完备的排险设施，能及时地监控并有效地排除人或野生动物遭遇的险情。

【解析】

1.本题涉及知识点：

本题考查论证推理的“加强类”。

支持是在题干中给出一个推理或论证，但由于前提的条件不足以推出结论，或者由于论证的论据不足以得出其论题，因此需要用某个选项去补充其前提或论据，使推理或论证成立的可能性增大。

支持题型的提问方式：

“以下哪项如果为真，最能加强上述断定？”

“下述哪项如果为真，最能支持上述观点？”

“下述哪项如果为真，最能支持上述论证？”

2.技巧方法：

对于加强类论证推理，首先最重要的是找“**论点**”和“**论据**”，然后：

（1）加强观点：

直接证明论点是成立的

（2）建立联系（搭桥）

其基本思路即证明论据可以推出论点，具体可分为“直接搭桥”和“间接搭桥”，直接搭桥的

特点是话题词与题干高度一致；间接搭桥的特点是话题词和题干不完全一致。

（3）支持论据

直接证明论据是成立的。

3.具体过程：

题干中董事会的论点是：引进灰狼是合理的。论据是：①灰狼不会对游客造成危害；②灰狼不会对公园中的其他野生动物造成危害。B、C 两项都意味着灰狼不会对人造成危害。D 项意味着灰狼不会对野生动物造成危害。E 项意味着灰狼不会对人和野生动物造成危害。A 项与题干论证无关。故选 A。

15.大多数孩子很难解释清楚一个表示他当前看不到或摸不着的物体的词的具体含义。但是，这些孩子却能够很好地运用这些词来表达他们的意图和情感。可见，懂得一个词的意思并非一定要依赖于对这个词的含义做出清楚的解释。

以下哪项原则如果被接受，能够为上述结论提供最好的理由？【D】

A.对大多数人来说，做某一件事是非常难的，但这并不意味着没有人能做到它。

B.所有对一个词能提供精确解释的人都清楚地懂得这个词的含义。

C.表达感情的词比表达物体的词具有更狭窄的含义。

D.当一个人能够准确地运用一个词表示他当时的感受时，就等于他懂得了这个词的含义。

E.只有当字词所代表的物体能被看到或摸到时，它们的含义才能得到清楚的解释。

【解析】

1.本题涉及知识点：

本题考查论证推理的“加强类”。

支持是在题干中给出一个推理或论证，但由于前提的条件不足以推出结论，或者由于论证的论据不足以得出其论题，因此需要用某个选项去补充其前提或论据，使推理或论证成立的可能性增大。

支持题型的提问方式：

“以下哪项如果为真，最能加强上述断定？”

“下述哪项如果为真，最能支持上述观点？”

“下述哪项如果为真，最能支持上述论证？”

2.技巧方法：

对于加强类论证推理，首先最重要的是找“**论点**”和“**论据**”，然后：

（1）加强观点：

直接证明论点是成立的

（2）建立联系（搭桥）

其基本思路即证明论据可以推出论点，具体可分为“直接搭桥”和“间接搭桥”，直接搭桥的特点是话题词与题干高度一致；间接搭桥的特点是话题词和题干不完全一致。

（3）支持论据

直接证明论据是成立的。

3.具体过程：

题干从“不能对一个词的含义做出清楚的解释，一个人也可以很好地运用这些词来表达思想”，推出：不能对一个词的含义做出清楚的解释，也可以懂得一个词的意思。这里隐含的意思就是：当一个人能够准确地运用一个词表示他当时的感受时，就等于他懂得了这个词的含义。故选D。

16.环境科学家：在过去的10年中，政府对保护湿地的投资确实增加了6倍，而同时需要这样保护的土地面积只增加了2倍（尽管这些区域在10年前已经很大了）。即使把通货膨胀考虑进去，现在的投资金额也至少是10年前的3倍。虽然如此，目前政府对保护湿地的投资仍是不够的，政府的投资应该进一步增加。

下面哪一项如果正确，最有助于使环境科学家的结论与引用的证据相一致？【E】

A.负责管理湿地保护资金的政府机构在过去的10年中一直管理不当且运行效率较低。

B.在过去的10年中，那些被政府雇来保护湿地的科学家的薪水的增长比率高于通货膨胀的比率。

C.过去10年的研究使现在的科学家在湿地遭受严重破坏的危险之前就把它们定为需要保护的对象。

D.现在有更多的人与科学家一样在为保护包括湿地在内的自然资源而工作。

E.不像现在，10年以前对保护湿地的投资几乎是不存在的。

【解析】

1.本题涉及知识点：

本题考查论证推理的“加强类”。

支持是在题干中给出一个推理或论证，但由于前提的条件不足以推出结论，或者由于论证的论据不足以得出其论题，因此需要用某个选项去补充其前提或论据，使推理或论证成立的可能性增大。

支持题型的提问方式：

“以下哪项如果为真，最能加强上述断定？”

“下述哪项如果为真，最能支持上述观点？”

“下述哪项如果为真，最能支持上述论证？”

2.技巧方法：

对于加强类论证推理，首先最重要的是找“**论点**”和“**论据**”，然后：

（1）加强观点：

直接证明论点是成立的

（2）建立联系（搭桥）

其基本思路即证明论据可以推出论点，具体可分为“直接搭桥”和“间接搭桥”，直接搭桥的

特点是话题词与题干高度一致；间接搭桥的特点是话题词和题干不完全一致。

（3）支持论据

直接证明论据是成立的。

3.具体过程：

前提：现在的投资金额是10年前的3倍（投资增加6倍，面积增加2倍，相对比值是信息3倍）。→结论：政府对湿地保护的投资应该进一步增加。A选项削弱题干结论，如果管理不当且运行效率较低，那么进一步投入的必要性就值得商榷了。B选项，科学家的薪水增长比率只是政府对湿地保护投资的一部分，只能说明对科学家的投资没有减少，不能说明整体对湿地保护投资的金额是多还是少。C选项直接支持前提，说明研究使得湿地面积增加2倍是合乎实际情况的，但仅仅说明面积变大，并不针对论证强调的数据比例关系，故力度弱。D选项不涉及政府投资金额的大小，无关。E选项直接支持论证关系，力度最强。前提强调的是倍数，是相对值；而结论强调的是投资额，是绝对值，此处明显缺少基数。若10年前的基数太小，那么即便增加了3倍，很可能绝对量也不大，故需要增加投资。故选E。

17.19世纪，英国城市人口增加而农村人口下降。一位历史学家推理说，这种变化并不是因为工业化，而是由于人口向城市地区的一系列的迁移，每次迁移都伴随着农业经济的衰退。为证实这一假说，这位历史学家打算比较经济数据与人口普查数据。

以下哪项如果为真，将最有力地支持这位历史学家的假说？【E】

A.在工业经济增长最快的时期，同时农村人口也相对减少。

B.当农业经济最萧条的时候，整个人口的增长也减慢了。

C.当农业经济相对强劲，工业经济不景气的时候，农村人口会急剧下降。

D.当工业、农业经济都比较好的时候，城市人口增长较快。

E.当农业经济最强劲的时候，城市人口增长较慢。

【解析】

1.本题涉及知识点：

本题考查论证推理的“加强类”。

支持是在题干中给出一个推理或论证，但由于前提的条件不足以推出结论，或者由于论证的论据不足以得出其论题，因此需要用某个选项去补充其前提或论据，使推理或论证成立的可能性增大。

支持题型的提问方式：

“以下哪项如果为真，最能加强上述断定？”

“下述哪项如果为真，最能支持上述观点？”

“下述哪项如果为真，最能支持上述论证？”

2.技巧方法：

对于加强类论证推理，首先最重要的是找“**论点**”和“**论据**”，然后：

（1）加强观点：

直接证明论点是成立的

（2）建立联系（搭桥）

其基本思路即证明论据可以推出论点，具体可分为“直接搭桥”和“间接搭桥”，直接搭桥的特点是话题词与题干高度一致；间接搭桥的特点是话题词和题干不完全一致。

（3）支持论据

直接证明论据是成立的。

3.具体过程：

题干断定到，农业经济的衰退是城市人口增加的原因。选项 E 则说，农业经济强劲时，城市人口增加就缓慢，说明是由于人口迁移而造成农业经济的下降，从反面加强了论证。故选 E。

18.中国的医药卫生事业在 20 世纪 80 年代初有了长足的发展，尽管还有许多缺陷，但是效果是明显的，从传染病的发病率明显下降就可以看出这一点。调查表明，最近几年来，成年人中患肺结核的病例逐年减少。当然，卫生部的官员仍然非常谨慎，他们在公开场合表示，上述调查还不能得出肺结核发病率逐年下降的结论。

以下哪项如果为真，则最能加强卫生部官员的观点？【E】

A.上述调查的重点是在城市，农村中肺结核的发病情况缺乏准确的统计，而城乡医疗条件存在很大差异。

B.肺结核早就不是不治之症。

C.和心血管病、肿瘤等比较，近年来对肺结核的防治缺乏足够的重视。

D.防治肺结核病的医疗条件近年来有较大的改善，但比较起来，西部地区在人员配备、医疗器材等各个方面与东部相比，仍然差距甚远。

E.近年来由于城市人口增长较快，加上城市青少年身体素质较差，所以青少年成为肺结核发病的主要人群。

【解析】

1.本题涉及知识点：

本题考查论证推理的“加强类”。

支持是在题干中给出一个推理或论证，但由于前提的条件不足以推出结论，或者由于论证的论据不足以得出其论题，因此需要用某个选项去补充其前提或论据，使推理或论证成立的可能性增大。

支持题型的提问方式：

“以下哪项如果为真，最能加强上述断定？”

“下述哪项如果为真，最能支持上述观点？”

“下述哪项如果为真，最能支持上述论证？”

2.技巧方法：

对于加强类论证推理，首先最重要的是找“**论点**”和“**论据**”，然后：

（1）加强观点：

直接证明论点是成立的

（2）建立联系（搭桥）

其基本思路即证明论据可以推出论点，具体可分为“直接搭桥”和“间接搭桥”，直接搭桥的特点是话题词与题干高度一致；间接搭桥的特点是话题词和题干不完全一致。

（3）支持论据

直接证明论据是成立的。

3.具体过程：

前提：成年人中患肺结核的病例逐年减少。→结论：肺结核发病率可能没有逐年下降。A 选项不能支持，题干不涉及患肺结核的病例发生的地区。B 选项与题干论证无关。C 选项不能支持，题干不涉及肺结核与其他疾病的对比。D 选项不能支持，西部地区与东部相差甚远，但其自身与之前相比可能已有了长远发展。削弱官员观点。E 选项最能支持，选项直接指出题干可能犯了以偏概全的错误，成年人并不能作为肺结核发病的主要群体，因此需要青少年这个主要发病群体的发病率才能得出结论。故选 E。

19.一个已经公认的结论是，北美洲人的祖先来自亚洲。至于亚洲人是如何到达北美洲的呢，科学家们一直假设，亚洲人是跨越在 14000 年以前还连结着北美洲和亚洲，后来沉入海底的陆地进入北美洲的，在艰难的迁徙途中，他们靠捕猎沿途陆地上的动物为食。

最近的新发现导致了一个新的假设，亚洲人是驾船沿着上述陆地的南部海岸，沿途以鱼和海洋生物为食而进入北美洲的。

以下哪项如果为真，最能使人有理由在两个假设中更相信后者？【B】

A.当北美洲和亚洲还连在一起的时候，亚洲人主要以捕猎陆地上的动物为生。

B.上述连结北美洲和亚洲的陆地气候极为寒冷，植物品种和数量都极为稀少，无法维持动物的生存。

C.存在于 8000 年以前的亚洲和北美洲文化，显示出极大的类似性。

D.在欧洲，靠海洋生物为人的食物来源的海洋文化，最早发端于 10000 年以前。

E.在亚洲南部，以海洋生物为人的食物来源的海洋文化，最早发端于 14000 年以前。

【解析】

1.本题涉及知识点：

本题考查论证推理的“加强类”。

支持是在题干中给出一个推理或论证，但由于前提的条件不足以推出结论，或者由于论证的论据不足以得出其论题，因此需要用某个选项去补充其前提或论据，使推理或论证成立的可能性增大。

支持题型的提问方式：

“以下哪项如果为真，最能加强上述断定？”

“下述哪项如果为真，最能支持上述观点？”

“下述哪项如果为真，最能支持上述论证？”

2.技巧方法：

对于加强类论证推理，首先最重要的是找“**论点**”和“**论据**”，然后：

（1）加强观点：

直接证明论点是成立的

（2）建立联系（搭桥）

其基本思路即证明论据可以推出论点，具体可分为“直接搭桥”和“间接搭桥”，直接搭桥的特点是话题词与题干高度一致；间接搭桥的特点是话题词和题干不完全一致。

（3）支持论据

直接证明论据是成立的。

3.具体过程：

题干中是一个对话，具有对抗性。要加强后一个假设就是要削弱前一个假设。削弱前一个假设，就是要指出亚洲人不是靠捕猎沿途陆地上的动物为食，跨越14000年前还连结亚洲和北美洲的陆地进入北美洲的。B项说明在连结北美洲和亚洲的陆地气候极为寒冷，植物品种和数量都极为稀少，无法维持动物的生存，也就是削弱了人们靠捕猎陆地上的动物为食的可能性，加强了以鱼和海洋生物为食的可能性。故选B。

20.几年来，我国许多餐厅使用一次性筷子，这种现象受到越来越多的批评。许多资源环境工作者在报刊上呼吁：为了保护森林资源，让山变绿、水变清，现在是采取坚决措施，禁用一次性筷子的时候了。

以下除哪项外，从不同方面对批评者的观点提供了支持？【E】

A.我国森林资源十分匮乏，把大好的木材用来做一次性筷子，实在是莫大的浪费。

B.1998年的特大水灾造成的损失既与天气有关，也与多年的滥砍滥伐有很大关系。

C.森林和各种绿色植被对涵养水分、调节气候、防止水土流失具有不可替代的作用。

D.禁用一次性筷子既需要大张旗鼓的宣传，又需要制定相应的法规，建立完善的监督机制。

E.保护森林不能只保不用。合理使用，适量采伐，发展林区经济，还能促进保护。

【解析】

1.本题涉及知识点：

本题考查论证推理的“加强类”。

支持是在题干中给出一个推理或论证，但由于前提的条件不足以推出结论，或者由于论证的论据不足以得出其论题，因此需要用某个选项去补充其前提或论据，使推理或论证成立的可能性增大。

支持题型的提问方式：

“以下哪项如果为真，最能加强上述断定？”

“下述哪项如果为真，最能支持上述观点？”

“下述哪项如果为真，最能支持上述论证？”

2.技巧方法：

对于加强类论证推理，首先最重要的是找“**论点**”和“**论据**”，然后：

（1）加强观点：

直接证明论点是成立的

（2）建立联系（搭桥）

其基本思路即证明论据可以推出论点，具体可分为“直接搭桥”和“间接搭桥”，直接搭桥的特点是话题词与题干高度一致；间接搭桥的特点是话题词和题干不完全一致。

（3）支持论据

直接证明论据是成立的。

3.具体过程：

A、B、C、D 四项都与批评者的观点一致，呼吁禁用一次性筷子，只有 E 项与批评者的意见不一致，E 项提倡发展林区经济和保护森林同时进行，没有对批评者的观点提供支持，反而起到削弱作用。故选 E。

21.某外国航空公司经理：“新开发的避撞系统，虽然还未经全面测试以发现潜在的问题，但也必须马上在客机上安装，因为这个系统的机械报警装置可以使飞行员避免撞机事故。”

该公司飞行员：“飞行员不能驾驶一架避撞系统未经全面测试的飞机，因为有故障的避撞系统将会误导飞行员，造成撞机。”

以下哪项如果为真，最能加强飞行员的反对意见？【C】

A.机械设备总是有可能出故障。

B.喷气式发动机在第一次投入使用之前也未经彻底测试，但是其性能与安全记录却是有目共睹的。

C.虽然避撞系统能使飞行员避免一些相撞事故，但是未经测试的避撞系统的潜在问题可能会造成更多的撞机事故。

D.许多撞机事故是由飞行员过度疲劳造成的。

E.处于目前开发阶段的避撞系统，在 6 个月的试用期间显示，在客机上的工作效果比在货机上好。

【解析】

1.本题涉及知识点：

本题考查论证推理的“加强类”。

支持是在题干中给出一个推理或论证，但由于前提的条件不足以推出结论，或者由于论证的论据不足以得出其论题，因此需要用某个选项去补充其前提或论据，使推理或论证成立的可能性

增大。

支持题型的提问方式：

“以下哪项如果为真，最能加强上述断定？”

“下述哪项如果为真，最能支持上述观点？”

“下述哪项如果为真，最能支持上述论证？”

2.技巧方法：

对于加强类论证推理，首先最重要的是找“**论点**”和“**论据**”，然后：

（1）加强观点：

直接证明论点是成立的

（2）建立联系（搭桥）

其基本思路即证明论据可以推出论点，具体可分为“直接搭桥”和“间接搭桥”，直接搭桥的特点是话题词与题干高度一致；间接搭桥的特点是话题词和题干不完全一致。

（3）支持论据

直接证明论据是成立的。

3.具体过程：

C 项与题干中飞行员的反对意见完全一致，即都强调了使用未经测试的避撞系统可能会带来的害处，所以最能加强飞行员的反对意见。A、B 两项都加强了航空公司经理的意见，D、E 两项都是无关的选项。故选 C。

22.爱尔兰有大片泥煤蕴藏量丰富的湿地。环境保护主义者一直反对在湿地区域采煤。他们的理由是开采泥煤会破坏爱尔兰湿地的生态平衡，其直接严重后果是会污染水源。然而，这一担心是站不住脚的。据近 50 年的相关统计，从未发现过因采煤而污染水源的报告。

以下哪项如果为真，最能加强题干的论证？【C】

A.在爱尔兰的湿地采煤已有 200 年的历史，其间从未因此造成水源污染。

B.在爱尔兰，采煤湿地的生态环境和未采煤湿地没有实质性的不同。

C.在爱尔兰，采煤湿地的生态环境和未开采前没有实质性的不同。

D.爱尔兰具有足够的科技水平和财政支持来治理污染，保护生态。

E.爱尔兰是世界上生态环境最好的国家之一。

【解析】

1.本题涉及知识点：

本题考查论证推理的“加强类”。

支持是在题干中给出一个推理或论证，但由于前提的条件不足以推出结论，或者由于论证的论据不足以得出其论题，因此需要用某个选项去补充其前提或论据，使推理或论证成立的可能性增大。

支持题型的提问方式：

“以下哪项如果为真，最能加强上述断定？”

“下述哪项如果为真，最能支持上述观点？”

“下述哪项如果为真，最能支持上述论证？”

2.技巧方法：

对于加强类论证推理，首先最重要的是找“**论点**”和“**论据**”，然后：

（1）加强观点：

直接证明论点是成立的

（2）建立联系（搭桥）

其基本思路即证明论据可以推出论点，具体可分为“直接搭桥”和“间接搭桥”，直接搭桥的特点是话题词与题干高度一致；间接搭桥的特点是话题词和题干不完全一致。

（3）支持论据

直接证明论据是成立的。

3.具体过程：

题干意在强调煤炭的开采不会影响生态环境，而C项恰好说开采和未开采的生态环境没有实质变化，从而加强了题干的结论。故选C。

23.近几年来，研究生入学考试持续升温。与之相应，各种各样的考研辅导班应运而生，尤其是英语类和政治类辅导班几乎是考研一族的必需之选。刚参加工作不久的小庄也打算参加研究生入学考试，所以，小庄一定得参加英语辅导班。

以下哪项最能加强上述论证？【E】

A.如果参加英语辅导班，就可以通过研究生入学考试。

B.只有打算参加研究生入学考试的人才参加英语辅导班。

C.即使参加英语辅导班，也未必能通过研究生入学考试。

D.即使不参加英语辅导班，也未必不能通过研究生入学考试。

E.如果不参加英语辅导班，就不能通过研究生入学考试。

【解析】

1.本题涉及知识点：

本题考查论证推理的“加强类”。

支持是在题干中给出一个推理或论证，但由于前提的条件不足以推出结论，或者由于论证的论据不足以得出其论题，因此需要用某个选项去补充其前提或论据，使推理或论证成立的可能性增大。

支持题型的提问方式：

“以下哪项如果为真，最能加强上述断定？”

“下述哪项如果为真，最能支持上述观点？”

“下述哪项如果为真，最能支持上述论证？”

2.技巧方法：

对于加强类论证推理，首先最重要的是找“**论点**”和“**论据**”，然后：

（1）加强观点：

直接证明论点是成立的

（2）建立联系（搭桥）

其基本思路即证明论据可以推出论点，具体可分为“直接搭桥”和“间接搭桥”，直接搭桥的特点是话题词与题干高度一致；间接搭桥的特点是话题词和题干不完全一致。

（3）支持论据

直接证明论据是成立的。

3.具体过程：

本题要求建立小庄打算参加研究生入学考试和小庄一定得参加英语辅导班之间的联系。E 项符合题干要求，其逆否命题为“如果通过研究生入学考试，那么一定参加英语辅导班”。故选 E。

24.过去，人们很少在电脑上收到垃圾邮件。现在，只要拥有自己的电子邮件地址，人们一打开电脑，每天可以收到几封甚至数十封包括各种广告和无聊内容的垃圾邮件。因此，应该制订限制各种垃圾邮件的规则并研究反垃圾的有效方法。

以下哪项如果为真，最能支持上述论证？【D】

A.目前的广告无孔不入，已经渗透到每个人的日常生活领域。

B.目前，电子邮箱地址探测软件神通广大，而防范的软件和措施却软弱无力。

C.现在的电脑性能与过去的电脑相比，功能十分强大。

D.对于经常使用计算机的现代人来说，垃圾邮件是他们的最主要烦恼之一。

E.广告公司通过电子邮件发出的广告，被认真看过的不足千分之一。

【解析】

1.本题涉及知识点：

本题考查论证推理的“加强类”。

支持是在题干中给出一个推理或论证，但由于前提的条件不足以推出结论，或者由于论证的论据不足以得出其论题，因此需要用某个选项去补充其前提或论据，使推理或论证成立的可能性增大。

支持题型的提问方式：

“以下哪项如果为真，最能加强上述断定？”

“下述哪项如果为真，最能支持上述观点？”

“下述哪项如果为真，最能支持上述论证？”

2.技巧方法：

对于加强类论证推理，首先最重要的是找“**论点**”和“**论据**”，然后：

（1）加强观点：

直接证明论点是成立的

（2）建立联系（搭桥）

其基本思路即证明论据可以推出论点，具体可分为“直接搭桥”和“间接搭桥”，直接搭桥的特点是话题词与题干高度一致；间接搭桥的特点是话题词和题干不完全一致。

（3）支持论据

直接证明论据是成立的。

3.具体过程：

如果D项为真,即如果对于经常使用计算机的现代人来说,垃圾邮件是他们的最主要烦恼之一,则说明确实应该制订限制各种垃圾邮件的规则并研究反垃圾邮件的有效方法。其他选项的支持力度均不如D项。故选D。

25.飞驰汽车制造公司同时推出飞鸟和锐进两款春季小型轿车。两款轿车以其新颖的造型受到购车族的欢迎。两款轿车销售时都带有轿车安全性能和出现一般问题时的处理说明书以及使用轿车一年后情况反馈表。飞鸟轿车购车族的56%同时购买了轿车保险，锐进轿车购车族的82%同时购买了轿车保险，一年后，锐进轿车出现问题的反馈表是飞鸟轿车出现问题的反馈表的四倍，由此可见，锐进轿车的质量比飞鸟轿车的质量差，锐进轿车的购车者同时购买轿车保险的数量比飞鸟轿车多是有一定道理的。

以下哪项如果为真，最有助于加强上述论证？【D】

A.飞鸟轿车购车族的平均年龄比锐进轿车购车族的平均年龄低。

B.飞鸟轿车情况反馈表比锐进轿车情况反馈表更完善，需要花费更多时间完成表格的填写。

C.飞驰汽车制造公司收到的飞鸟轿车投诉信数量是锐进轿车的两倍。

D.购买飞鸟轿车的客户数量是购买锐进轿车的两倍。

E.飞鸟轿车的广告是锐进轿车的两倍，其良好的质量广为人知。

【解析】

1.本题涉及知识点：

本题考查论证推理的“加强类”。

支持是在题干中给出一个推理或论证,但由于前提的条件不足以推出结论,或者由于论证的论据不足以得出其论题,因此需要用某个选项去补充其前提或论据,使推理或论证成立的可能性增大。

支持题型的提问方式：

“以下哪项如果为真，最能加强上述断定？”

“下述哪项如果为真，最能支持上述观点？”

“下述哪项如果为真，最能支持上述论证？”

2.技巧方法：

对于加强类论证推理，首先最重要的是找“**论点**”和“**论据**”，然后：

（1）加强观点：

直接证明论点是成立的

（2）建立联系（搭桥）

其基本思路即证明论据可以推出论点，具体可分为“直接搭桥”和“间接搭桥”，直接搭桥的特点是话题词与题干高度一致；间接搭桥的特点是话题词和题干不完全一致。

（3）支持论据

直接证明论据是成立的。

3.具体过程：

题干从“锐进轿车出现问题的反馈表是飞鸟轿车出现问题的反馈表的四倍”，推出结论“锐进轿车的质量比飞鸟轿车的质量差”。D 项指出，飞鸟轿车不但出问题的反馈表少，而且客户数量又多，说明其质量不错，从而加强了题干。C 项削弱了题干。其他选项均与题干无关。故选 D。

26.具有大型天窗的百货商场表示，商场内射入的阳光可增加销售额。该百货商场的大天窗可使商场的一半地方都有阳光射入，这样可以降低人工照明的需要，商场的另一半地方只有人工照明。从该商场两年前开张开始，天窗一边的各部门的销售量要远高于其他各部门的销售量。以下哪项如果为真，最能支持上述论证？【C】

A.除了天窗，商场两部分的建筑之间还有一些明显的差别。

B.在某些阴天里，商场中天窗下面的部分需要更多的人工灯光来照明。

C.在商场夜间开放的时间里，位于商场中天窗下面部分的各部门的销售额不比其他部门高。

D.位于商场天窗下面部分的各部门，在该商场的其他一些连锁店中也是销售额最高的部门。

E.位于商场天窗下面部分的各部门，在该商场的其他一些连锁店中并非销售额最高的部门。

【解析】

1.本题涉及知识点：

本题考查论证推理的“加强类”。

支持是在题干中给出一个推理或论证，但由于前提的条件不足以推出结论，或者由于论证的论据不足以得出其论题，因此需要用某个选项去补充其前提或论据，使推理或论证成立的可能性增大。

支持题型的提问方式：

“以下哪项如果为真，最能加强上述断定？”

“下述哪项如果为真，最能支持上述观点？”

“下述哪项如果为真，最能支持上述论证？”

2.技巧方法：

对于加强类论证推理，首先最重要的是找“**论点**”和“**论据**”，然后：

（1）加强观点：

直接证明论点是成立的

（2）建立联系（搭桥）

其基本思路即证明论据可以推出论点，具体可分为“直接搭桥”和“间接搭桥”，直接搭桥的特点是话题词与题干高度一致；间接搭桥的特点是话题词和题干不完全一致。

（3）支持论据

直接证明论据是成立的。

3.具体过程：

题干运用求异法得出结论，认为有阳光射入是有天窗一边的销售量要高的原因。C 项指出“在商场夜间开放的时间里，位于商场中天窗下面部分的各部门的销售额不比其他部门高”，即在商场夜间由于没有阳光射入，相应各部门的销售量就没有那么高，从反面场合加强了题干。故选 C。

27.当一名司机被怀疑饮用了过多的酒精时，与检验该司机血液中的酒精水平相比，检验该司机走直线的能力是检验该司机是否适于驾车的更可靠的指标。

以下哪项如果正确，最能构成对上述论证的支持？【D】

A.观察者们对一个人是否成功地走了直线不能全部达成一致。

B.用于检验血液酒精含量水平的测试是准确、低成本和易于实施的。

C.一些人在血液酒精含量水平很高时，还可以走直线，但却不能正常驾车。

D.由于基因的不同和对酒精的抵抗能力的差别，一些人血液酒精含量水平很高时仍能正常驾车。

E.据有关交警部门的说法，一个喝醉了酒的司机通常走直线的能力都比较弱。

【解析】

1.本题涉及知识点：

本题考查论证推理的“加强类”。

支持是在题干中给出一个推理或论证，但由于前提的条件不足以推出结论，或者由于论证的论据不足以得出其论题，因此需要用某个选项去补充其前提或论据，使推理或论证成立的可能性增大。

支持题型的提问方式：

“以下哪项如果为真，最能加强上述断定？”

“下述哪项如果为真，最能支持上述观点？”

“下述哪项如果为真，最能支持上述论证？”

2.技巧方法：

对于加强类论证推理，首先最重要的是找“**论点**”和“**论据**”，然后：

（1）加强观点：

直接证明论点是成立的

（2）建立联系（搭桥）

其基本思路即证明论据可以推出论点，具体可分为“直接搭桥”和“间接搭桥”，直接搭桥的特点是话题词与题干高度一致；间接搭桥的特点是话题词和题干不完全一致。

（3）支持论据

直接证明论据是成立的。

3.具体过程：

题干有一个隐含结论“检验该司机血液中的酒精水平并不是检验该司机是否适于驾车的可靠的指标”。如果D项为真，即“由于基因的不同和对酒精的抵抗能力的差别，一些人血液酒精含量水平很高时仍能正常驾车”，就是说检验他血液酒精含量水平没有什么用，从而加强了题干。注意，C项削弱了题干。故选D。

28.许多公司目前都为雇员免费提供健身、缓解压力或戒烟的服务项目。这些项目增加了员工的生产力，减少了缺勤率，并降低了员工的健康保险费。因此，这些服务项目不但有益于公司，而且有利于员工个人。

以下哪项如果为真，最能构成对上述论证的支持？【C】

A.健身是公司为员工所提供的最常见的服务项目。

B.有研究表明，在有压力的管理环境中，训练对许多人都是无效的。

C.有规律的锻炼可以减少心脏病发病率并使人的精力更加充沛。

D.过快地参加大运动量的健身活动有时会造成运动伤害。

E.公司需要雇专人来监管所提供的多种服务项目。

【解析】

1.本题涉及知识点：

本题考查论证推理的“加强类”。

支持是在题干中给出一个推理或论证，但由于前提的条件不足以推出结论，或者由于论证的论据不足以得出其论题，因此需要用某个选项去补充其前提或论据，使推理或论证成立的可能性增大。

支持题型的提问方式：

“以下哪项如果为真，最能加强上述断定？”

“下述哪项如果为真，最能支持上述观点？”

“下述哪项如果为真，最能支持上述论证？”

2.技巧方法：

对于加强类论证推理，首先最重要的是找“**论点**”和“**论据**”，然后：

（1）加强观点：

直接证明论点是成立的

（2）建立联系（搭桥）

其基本思路即证明论据可以推出论点，具体可分为“直接搭桥”和“间接搭桥”，直接搭桥的特点是话题词与题干高度一致；间接搭桥的特点是话题词和题干不完全一致。

（3）支持论据

直接证明论据是成立的。

3.具体过程：

如果C项为真，即有规律的锻炼可以减少心脏病发病率并使人的精力更加充沛，则构成了对题干论断最强的支持，即确实“公司目前都为雇员免费提供健身、缓解压力或戒烟的服务项目不但有益于公司，而且有利于员工个人”。故选C。

29.许多种蜘蛛都会随着它们所附花的颜色而改变颜色。不同于人类，被那些蜘蛛捕食的昆虫拥有敏锐的颜色鉴别力，可以分辨出这种伪装。这说明，蜘蛛颜色改变对它们本身的用处在于躲避自己的天敌。

以下哪项如果为真，最能支持上述论证？【E】

A.捕食改变颜色的蜘蛛的动物是某些种类的蝙蝠，它们通过声波的回声捕食它们的猎物。

B.某些捕食改变颜色的蜘蛛的动物之所以谨慎地这样做仅仅是为了避免消化有毒的蜘蛛毒液。

C.改变颜色的蜘蛛拥有的辨色力比不能变色的蜘蛛更敏锐。

D.变色蜘蛛的网易被那些蜘蛛的捕食者看到。

E.有些以变色蜘蛛为食的鸟类的辨色力不如人类敏锐。

【解析】

1.本题涉及知识点：

本题考查论证推理的“加强类”。

支持是在题干中给出一个推理或论证，但由于前提的条件不足以推出结论，或者由于论证的论据不足以得出其论题，因此需要用某个选项去补充其前提或论据，使推理或论证成立的可能性增大。

支持题型的提问方式：

“以下哪项如果为真，最能加强上述断定？”

“下述哪项如果为真，最能支持上述观点？”

“下述哪项如果为真，最能支持上述论证？”

2.技巧方法：

对于加强类论证推理，首先最重要的是找“**论点**”和“**论据**”，然后：

（1）加强观点：

直接证明论点是成立的

（2）建立联系（搭桥）

其基本思路即证明论据可以推出论点，具体可分为“直接搭桥”和“间接搭桥”，直接搭桥的特点是话题词与题干高度一致；间接搭桥的特点是话题词和题干不完全一致。

（3）支持论据

直接证明论据是成立的。

3.具体过程：

如果E项为真，即有些以变色蜘蛛为食的鸟类的辨色力不如人类敏锐，则蜘蛛随着它们所附花的颜色而改变颜色，就能够躲避自己的天敌。从而支持了题干。故选E。

30.近年来，越来越多的教育专家不断呼吁小学生家长不要给孩子增加太多的学习负担，少报课外班，过多地上课外班对小学生的心理健康不利。现在社会上充斥着各类针对小学生的课外培训机构，良莠不齐。

以下哪项陈述为真，最有力地支持了教育专家的观点？【D】

A.近两年来，在一些上了很多课外班的小学生中发现了心理异常者。

B.近两年来，越来越多的家长送孩子到各种课外班学习。

C.近两年来，上课外班的小学生中有的人不但学习成绩没有明显提高，而且还产生了对学习的厌倦心理。

D.近两年来，在家长引导下选择多种课外班的小学生中心理异常者的发生率高于不报或少报课外班的同龄学生。

E.近两年来，也有很多不上课外班的小学生成绩非常优秀。

【解析】

1.本题涉及知识点：

本题考查论证推理的“加强类”。

支持是在题干中给出一个推理或论证，但由于前提的条件不足以推出结论，或者由于论证的论据不足以得出其论题，因此需要用某个选项去补充其前提或论据，使推理或论证成立的可能性增大。

支持题型的提问方式：

“以下哪项如果为真，最能加强上述断定？”

“下述哪项如果为真，最能支持上述观点？”

“下述哪项如果为真，最能支持上述论证？”

2.技巧方法：

对于加强类论证推理，首先最重要的是找“**论点**”和“**论据**”，然后：

（1）加强观点：

直接证明论点是成立的

（2）建立联系（搭桥）

其基本思路即证明论据可以推出论点，具体可分为“直接搭桥”和“间接搭桥”，直接搭桥的特点是话题词与题干高度一致；间接搭桥的特点是话题词和题干不完全一致。

（3）支持论据

直接证明论据是成立的。

3.具体过程：

如果D项为真，即近两年来，在家长引导下选择多种课外班的小学生中心理异常者的发生率高于不报或少报课外班的同龄学生，则说明给孩子过多的报课外班确实对孩子的身体健康不利。A、C两项的支持力度不足。B、E两项与题干没有直接关系。故选D。

31.尽管象牙交易已被国际协议宣布为非法行为，一些钢琴的制造者仍使用象牙来覆盖钢琴键，这些象牙通常通过非法手段获得。最近，专家们发明出一种合成象牙，不像早期的象牙替代物，这种合成象牙受到了全世界范围内钢琴家的好评。但是，因为钢琴制造者从来不是象牙的主要消费者，所以合成象牙的发展可能对抑制为获得最自然的象牙而捕杀大象的活动没什么帮助。下面哪一项，如果正确，最有助于加强上述论述？【D】

A.大多数弹钢琴，但不是钢琴家的人也可以轻易地区分新的合成象牙和较次的象牙替代物。

B.新型的合成象牙可被生产出来，这种象牙的颜色表面质地可以与任何一种具有商业用途的自然象牙的质地相似。

C.其他自然产物，如骨头和乌龟壳证明不是自然象牙在钢琴键上的替代物。

D.自然象牙最普遍的应用是在装饰性雕刻品方面，这些雕刻品不但因为它们的工艺质量，而且因为它们的材料真实性而被珍藏。

E.生产新型象牙的费用要比生产科学家们以前开发的任何象牙替代品的低得多。

【解析】

1.本题涉及知识点：

本题考查论证推理的“加强类”。

支持是在题干中给出一个推理或论证，但由于前提的条件不足以推出结论，或者由于论证的论据不足以得出其论题，因此需要用某个选项去补充其前提或论据，使推理或论证成立的可能性增大。

支持题型的提问方式：

“以下哪项如果为真，最能加强上述断定？”

“下述哪项如果为真，最能支持上述观点？”

“下述哪项如果为真，最能支持上述论证？”

2.技巧方法：

对于加强类论证推理，首先最重要的是找“**论点**”和“**论据**”，然后：

（1）加强观点：

直接证明论点是成立的

（2）建立联系（搭桥）

其基本思路即证明论据可以推出论点，具体可分为“直接搭桥”和“间接搭桥”，直接搭桥的特点是话题词与题干高度一致；间接搭桥的特点是话题词和题干不完全一致。

（3）支持论据

直接证明论据是成立的。

3.具体过程：

第一步，根据“所以”找到前提和结论。前提：钢琴制造者从来不是象牙的主要消费者。结论：合成象牙的发展可能对抑制为获得最自然的象牙而捕杀大象的活动没什么帮助。第二步，注意题干论证，不是“主要消费者”就没法抑制为获得象牙的捕杀。D 选项直接表明“主要消费者”造成了“捕杀”。故选 D。

32.某城市一个居民小区 2014 年以前经常发生盗窃事件，2014 年在小区居民的要求下，物业管理部门为该小区安装了技术先进的多功能防盗系统，结果该小区盗窃事件的发生率显著下降，这说明多功能防盗系统对于防止盗窃事件的发生起到了重要的作用。

以下哪一项如果为真，最能加强上述结论？【A】

A.从 2014 年开始，该城市其他小区的盗窃事件有显著增加。

B.该城市另一个居民小区也安装了这种多功能防盗系统，但效果不佳。

C.从 2014 年开始，该城市加强了治安管理，盗窃事件有所减少。

D.采取其他的防盗措施对预防盗窃事件也能起到一定的效果。

E.该多功能防盗系统设计巧妙，多次获得奖项。

【解析】

1.本题涉及知识点：

本题考查论证推理的“加强类”。

支持是在题干中给出一个推理或论证，但由于前提的条件不足以推出结论，或者由于论证的论据不足以得出其论题，因此需要用某个选项去补充其前提或论据，使推理或论证成立的可能性增大。

支持题型的提问方式：

“以下哪项如果为真，最能加强上述断定？”

“下述哪项如果为真，最能支持上述观点？”

“下述哪项如果为真，最能支持上述论证？”

2.技巧方法：

对于加强类论证推理，首先最重要的是找“**论点**”和“**论据**”，然后：

（1）加强观点：

直接证明论点是成立的

（2）建立联系（搭桥）

其基本思路即证明论据可以推出论点，具体可分为“直接搭桥”和“间接搭桥”，直接搭桥的特点是话题词与题干高度一致；间接搭桥的特点是话题词和题干不完全一致。

（3）支持论据

直接证明论据是成立的。

3.具体过程：

题干：某小区安装多功能防盗系统后，盗窃事件发生率下降→多功能防盗系统对防止盗窃事件有作用。题干通过安装多功能防盗系统前后对比，得出一个因果关系，故此题为求异法模型。

A 项，题干中的小区装了多功能防盗系统后，盗窃事件发生率下降；而此项指出其他小区的盗窃事件有显著增加，与题干形成对照组，证明多功能防盗系统有作用，支持题干。

B 项，另一个居民小区也安装了这种多功能防盗系统（有因），但效果不佳（无果），削弱题干。

C 项，指出盗窃事件减少有其他的可能性：加强了治安管理，另有他因，削弱题干。

D 项，无关选项，题干的论证与“其他措施”无关。

E 项，无关选项，“获奖”并不能证明“有效”。

故选 A。

33.同样类型的犯罪，在中国的不同省区，判决结果可能存在较大不同。中国司法部认为这种不强制统一的判决方法是适合中国国情的，因为这种判决，赋予法官们自由裁量权，使他们可以根据实际情况考虑加刑或减刑，从而达到真正的公正，即惩罚的力度与犯罪的严重程度相符。所以，司法部并不打算引入不同地区相同的强制统一判决法。

下面哪项如果正确，证明了中国司法部的观点？【D】

A.目前在不强制统一判决法的情况下，中国东西部省区的法官对同一种类型且严重程度相同犯罪的判决差异很大。

B.中国的河南省，要求在全省境内实行强制统一判决法，该省犯罪率明显因此下降。

C.中国的法律制度模仿了苏联，这一制度要求法官具有公正、廉洁的品德和无私的精神。

D.中国刑法所规定的各种罪行，即使罪行相同，但最高量刑与最低量刑之间却有很大差别。

E.中国的法官都不是终身制，因此他们极容易受各种政治压力的影响。

【解析】

1.本题涉及知识点：

本题考查论证推理的“加强类”。

支持是在题干中给出一个推理或论证，但由于前提的条件不足以推出结论，或者由于论证的论据不足以得出其论题，因此需要用某个选项去补充其前提或论据，使推理或论证成立的可能性增大。

支持题型的提问方式：

“以下哪项如果为真，最能加强上述断定？”

“下述哪项如果为真，最能支持上述观点？”

“下述哪项如果为真，最能支持上述论证？”

2.技巧方法：

对于加强类论证推理，首先最重要的是找“**论点**”和“**论据**”，然后：

（1）加强观点：

直接证明论点是成立的

（2）建立联系（搭桥）

其基本思路即证明论据可以推出论点，具体可分为“直接搭桥”和“间接搭桥”，直接搭桥的特点是话题词与题干高度一致；间接搭桥的特点是话题词和题干不完全一致。

（3）支持论据

直接证明论据是成立的。

3.具体过程：

前提：不强制统一的判决方法赋予法官们自由裁量权，使得惩罚的力度与犯罪的严重，程度相符。→结论：不打算引入不同地区相同的强制统一判决法。A 选项直接指出同一类型、严重程度相同的犯罪本该判决相似，而实际却是差异很大，削弱司法部的观点。B 选项削弱司法部的观点，说明应该引入强制统一判决法。C 选项与题干论证无关。D 选项说明，即便罪行相同，但由于量刑差异很大，因此不应使用强制统一判决法，才更可能保持司法公正。E 选项与题干论证无关。故选 D。

34.某研究机构调查分析了 208 名有心痛和心律不齐等症状的病人。在开始接受手术治疗时通过问卷报告了自己对病情的看法，其中约有 20%的人非常担忧病情会恶化，有的甚至还害怕因此死亡，其他人就没有那么多担忧。后来的随访调查表明，那些手术前持有严重担忧情绪的人手术后复发率高于其他人。研究人员因此认为，担忧情绪不利于心脏病的康复。

以下哪项如果为真，最能支持上述论证的结论？【E】

A.有研究表明，担忧情绪会抑制大脑前额叶皮层活动，使人更抑郁。

B.研究人员发现那些有严重担忧情绪的人更关注自己心脏健康情况。

C.担忧情绪对健康是一个潜在威胁，会导致癌症、糖尿病等多种疾病。

D.那些有严重担忧情绪的人往往因为知道自己血液中含有加重心脏病风险的化学物质而感到担忧。

E.没有那么多担忧的人会对自己和周围环境创造积极的心理暗示，而这种暗示对于心脏病康复有一定帮助。

【解析】

1.本题涉及知识点：

本题考查论证推理的“加强类”。

支持是在题干中给出一个推理或论证，但由于前提的条件不足以推出结论，或者由于论证的论据不足以得出其论题，因此需要用某个选项去补充其前提或论据，使推理或论证成立的可能性增大。

支持题型的提问方式：

“以下哪项如果为真，最能加强上述断定？”

“下述哪项如果为真，最能支持上述观点？”

“下述哪项如果为真，最能支持上述论证？”

2.技巧方法：

对于加强类论证推理，首先最重要的是找“**论点**”和“**论据**”，然后：

（1）加强观点：

直接证明论点是成立的。

（2）建立联系（搭桥）

其基本思路即证明论据可以推出论点，具体可分为“直接搭桥”和“间接搭桥”，直接搭桥的特点是话题词与题干高度一致；间接搭桥的特点是话题词和题干不完全一致。

（3）支持论据

直接证明论据是成立的。

3.具体过程：

因：担忧情绪→果：不利于心脏病的康复信息。A 项不涉及担忧情绪对心脏病康复的影响，不能支持题干结论。B 项不涉及担忧情绪对心脏病康复的影响，不能支持题干结论，“关注心脏健康的状况”不代表对心脏病的康复有影响，无关选项。C 项与题干心脏病无关。D 项解释担忧情绪的由来，不能支持题干的结论。E 项没有担忧的人创造积极暗示，有利于心脏病康复，无因无果，支持了题干结论的因果关系。故选 E。

35.某纺织厂从国外引进了一套自动质量检验设备。开始使用该设备的 10 月份和 11 月份，产品的质量不合格率由 9 月份的 0.04%分别提高到 0.07%和 0.06%。因此，使用该设备对减少该厂的不合格产品进入市场起到了重要的作用。

以下哪项是上述论证最可能假设的？【C】

A.上述设备检测为不合格的产品中，没有一件事实上是合格的。

B.上述设备检测为不合格的产品中，没有一件事实上是不合格的。

C.9 月份检测为合格的产品中，至少有一些是不合格的。

D.9 月份检测为不合格的产品中，至少有一些是合格的。

E.上述设备是国内目前同类设备中最先进的。

【解析】

1.本题涉及知识点：

本题考查论证推理的“假设类”。

假设是使推理成立的一个必要条件。具体来说，若 A 是 B 的一个必要条件，那么非 A→非 B；若一个推理在没有某一条件时，这个推理就必然不成立，那么这个条件就是该推理的一个假设。假设题包括充分性假设和必要性假设。通常考查必要性假设。

假设题型的问法：

“上述论证是基于以下哪一个假设？”
“上述推论的逻辑前提是哪一个？”
“以下哪项最可能是以上论述的假设？”
“以下哪项是题干的论证必须假设的？”
2.技巧方法：
（1）建立联系：
特征是在论点和论据之间建立联系，“论据+假设→论点”，这类假设是近年真题的主流考法。
（2）特征是若假设成立，则论证不一定成立；但若假设不成立，则题干的论述也不成立。这一特征也是假设和支持的最大区别。
3.具体过程：
为了使得题干论证成立，C 项是必须假设的，否则，如果 9 月份检测为合格的产品全都合格的话，则 9 月份就没有不合格的产品漏检，题干结论就是假的，题干论证也就不能成立。故选 C。

36.今年所有向甲大学申请奖学金的学生同时也向乙大学申请奖学金。甲、乙两个大学各同意给予半数的申请者每人一个全奖。因此，所有这些申请者就都获得了一份全奖。
上述推论基于以下哪项假设？【C】
A.所有申请者既符合甲大学的入学要求，又符合乙大学的入学要求。
B.所有的申请者都愿意接受甲、乙大学的奖学金资助。
C.甲、乙两所大学没有给同一个申请者以全额奖学金。
D.没有任何一个申请者向第三家大学申请奖学金。
E.没有任何一个申请者在今年以前向甲大学或是乙大学提过申请。
【解析】
1.本题涉及知识点：
本题考查论证推理的“假设类”。
假设是使推理成立的一个必要条件。具体来说，若 A 是 B 的一个必要条件，那么非 A→非 B；若一个推理在没有某一条件时，这个推理就必然不成立，那么这个条件就是该推理的一个假设。假设题包括充分性假设和必要性假设。通常考查必要性假设。
假设题型的问法：
“上述论证是基于以下哪一个假设？”
“上述推论的逻辑前提是哪一个？”
“以下哪项最可能是以上论述的假设？”
“以下哪项是题干的论证必须假设的？”
2.技巧方法：
（1）建立联系：
特征是在论点和论据之间建立联系，“论据+假设→论点”，这类假设是近年真题的主流考法。

（2）特征是若假设成立，则论证不一定成立；但若假设不成立，则题干的论述也不成立。这一特征也是假设和支持的最大区别。

3.具体过程：

如果甲、乙两个大学给同一个申请者全额奖学金，那么题干中的论点“所有这些申请者就都获得了一份全奖”就不能成立了。所以说C项是必须要假设的条件。故选C。

37.人类学家发现早在旧石器时代，人类就有了死后复生的信念。在发掘出的那个时代的古墓中，死者的身边有衣服、饰物和武器等陪葬物，这是最早的关于人类具有死后复生信念的证据。以下哪项是上述议论所假定的？【E】

A.死者身边的陪葬物是死者生前所使用过的。

B.死后复生是大多数宗教信仰的核心信念。

C.宗教信仰是大多数古代文明社会的特征。

D.放置陪葬物是后人对死者的怀念与崇敬。

E.陪葬物是为了死者在复生后使用而准备的。

【解析】

1.本题涉及知识点：

本题考查论证推理的“假设类”。

假设是使推理成立的一个必要条件。具体来说，若A是B的一个必要条件，那么非A→非B；若一个推理在没有某一条件时，这个推理就必然不成立，那么这个条件就是该推理的一个假设。假设题包括充分性假设和必要性假设。通常考查必要性假设。

假设题型的问法：

“上述论证是基于以下哪一个假设？”

“上述推论的逻辑前提是哪一个？”

“以下哪项最可能是以上论述的假设？”

“以下哪项是题干的论证必须假设的？”

2.技巧方法：

（1）建立联系：

特征是在论点和论据之间建立联系，“论据+假设→论点”，这类假设是近年真题的主流考法。

（2）特征是若假设成立，则论证不一定成立；但若假设不成立，则题干的论述也不成立。这一特征也是假设和支持的最大区别。

3.具体过程：

如果陪葬物不是为了死者在复生后使用，而是为了别的原因而准备的，那么题干中的论点“人类在旧石器时代就有了死后复生的信念”就不能成立。所以说E项是必须要假设的条件。故选E。

38.在新一年电影节的评比上，组委会准备打破过去的只有一部最佳影片的限制，而按照历史片、爱情片等几种专门的类型分别评选最佳影片，这样可以使电影工作者的工作能够得到更为公平的对待，也可以使观众和电影爱好者对电影的优劣有更多的发言权。

根据上述信息，这种评比制度的改革隐含了以下哪项假设？【B】

A.划分影片类型，对于规范影片拍摄有重要的指导作用。

B.每一部影片都可以按照这几种专门的类型来进行分类，没有遗漏。

C.观众和电影爱好者在进行电影评论时喜欢进行类型的划分。

D.按照类型来进行影片的划分，不会使有些冷门题材的影片被忽视。

E.过去因为只有一部最佳影片，影响了电影工作者参加电影节评比的积极性。

【解析】

1.本题涉及知识点：

本题考查论证推理的“假设类”。

假设是使推理成立的一个必要条件。具体来说，若A是B的一个必要条件，那么非A→非B；若一个推理在没有某一条件时，这个推理就必然不成立，那么这个条件就是该推理的一个假设。假设题包括充分性假设和必要性假设。通常考查必要性假设。

假设题型的问法：

“上述论证是基于以下哪一个假设？”

“上述推论的逻辑前提是哪一个？”

“以下哪项最可能是以上论述的假设？”

“以下哪项是题干的论证必须假设的？”

2.技巧方法：

（1）建立联系：

特征是在论点和论据之间建立联系，“论据+假设→论点”，这类假设是近年真题的主流考法。

（2）特征是若假设成立，则论证不一定成立；但若假设不成立，则题干的论述也不成立。这一特征也是假设和支持的最大区别。

3.具体过程：

如果有些影片不能按照这几种专门的类型来进行分类，那么即使按照历史片、爱情片等几种专门的类型分别评选最佳影片，电影工作者的工作并非就能得到更为公平的对待。故选B。

39.面试是招聘的一个不可取代的环节；因为通过面试，可以了解应聘者的个性。那些个性不合适的应聘者将被淘汰。

以下哪项是上述论证最可能假设的？【A】

A.应聘者的个性很难通过招聘的其他环节来展示。

B.个性是确定录用应聘者的最主要因素。

C.只有经验丰富的招聘者才能通过面试准确把握应聘者的个性。

D.面试是招聘中最为公平的一个环节。

E.面试的唯一目的就是了解应聘者的个性。

【解析】

1.本题涉及知识点：

本题考查论证推理的“假设类”。

假设是使推理成立的一个必要条件。具体来说，若A是B的一个必要条件，那么非A→非B；若一个推理在没有某一条件时，这个推理就必然不成立，那么这个条件就是该推理的一个假设。

假设题包括充分性假设和必要性假设。通常考查必要性假设。

假设题型的问法：

“上述论证是基于以下哪一个假设？”

“上述推论的逻辑前提是哪一个？”

“以下哪项最可能是以上论述的假设？”

“以下哪项是题干的论证必须假设的？”

2.技巧方法：

（1）建立联系：

特征是在论点和论据之间建立联系，“论据+假设→论点”，这类假设是近年真题的主流考法。

（2）特征是若假设成立，则论证不一定成立；但若假设不成立，则题干的论述也不成立。这一特征也是假设和支持的最大区别。

3.具体过程：

A项是必须假设的，因为如果应聘者的个性还可以通过招聘的其他环节来展示的话，就不能说面试是招聘的一个不可取代的环节了。故选A。

40.这个国家在2019年控制非法药物进入的计划失败了。尽管对非法药物的需求呈下降趋势，但是，如果这个计划没有失败，多数非法药物在2019年的批发价格不会急剧下降。

以下哪项是上述论证的一个假设？【E】

A.2019年，非法药物的供给大幅下降。

B.2019年，平均每个消费者支付的非法药物的价格并未显著下降。

C.本国非法药物产量，比非法进入该国的非法药物增加更多。

D.2019年，少数几种非法药物的批发价格大幅上升了。

E.2019年，非法药物需求的下降不是批发价格大幅下降的唯一原因。

【解析】

1.本题涉及知识点：

本题考查论证推理的“假设类”。

假设是使推理成立的一个必要条件。具体来说，若A是B的一个必要条件，那么非A→非B；若一个推理在没有某一条件时，这个推理就必然不成立，那么这个条件就是该推理的一个假设。

假设题包括充分性假设和必要性假设。通常考查必要性假设。

假设题型的问法：

“上述论证是基于以下哪一个假设？”

“上述推论的逻辑前提是哪一个？”

“以下哪项最可能是以上论述的假设？”

“以下哪项是题干的论证必须假设的？”

2. 技巧方法：

（1）建立联系：

特征是在论点和论据之间建立联系，“论据+假设➞论点”，这类假设是近年真题的主流考法。

（2）特征是若假设成立，则论证不一定成立；但若假设不成立，则题干的论述也不成立。这一特征也是假设和支持的最大区别。

3. 具体过程：

E 项是题干论证所必须假设的，否则，如果所有 2019 年非法药物需求的下降是其批发价格下降的唯一原因，那么，不管国家控制非法药物进入的计划是否失败，只要非法药物需求下降，其批发价格一定会下降，这和题干的结论相矛盾。故选 E。

模态判断、关系判断

1.所有诚实的人都不可能听信一些非正式渠道的流言，若该命题为假，则以下命题为真的是【C】

A.所有诚实的人必然不会听信所有非正式渠道的流言。

B.有的诚实的人必然不会听信一些非正式渠道的流言。

C.有的诚实的人可能听信一些非正式渠道的流言。

D.有的诚实的人可能不会听信一些非正式渠道的流言。

E.所有诚实的人可能不会听信所有非正式渠道的流言。

【解析】

1.本题涉及知识点：

本题考查有关“必然”的非标准化成标准。

标准式	简称	非标准形式
必然肯定判断	必然 P	/
必然否定判断	必然不 P	不可能 P；一定不 P

2.技巧方法：

此类题的解题方法是通过根据题干给出的条件，结合有关“必然”的非标准形式化标准形式的方法，结合选项进行判断。

3.具体过程：

利用替换法，题干的命题等价于“有的诚实的人可能听信一些非正式渠道的流言”。

故选 C。

3.所有错误决策都不可能不付出代价，但有的错误决策可能不造成严重后果，若上述论述为真，则以下哪项与题干涵义一致？【E】

A.有的正确决策也可能付出代价，但所有的正确决策都不可能造成严重后果。

B.有的错误决策必然要付出代价，但所有的错误决策都不一定造成严重后果。

C.所有正确决策都不可能付出代价，但有的正确决策也可能造成严重后果。

D.有的错误决策必然要付出代价，但所有的错误决策都可能不造成严重后果。

E.所有错误决策都必然要付出代价，但有的错误决策不一定造成严重后果。

【解析】

1.本题涉及知识点：

本题考查有关“或然”的非标准化成标准。

标准式	简称	非标准形式
或然肯定判断	可能 P	/
或然否定判断	可能不 P	不一定 P；不必然 P；未必 P

2. 技巧方法：

此类题的解题方法是通过根据题干给出的条件，结合有关“或然”的非标准形式化标准形式的方法，结合选项进行判断。

3. 具体过程：

“所有错误决策都不可能不付出代价”等价于“所有错误决策都必然要付出代价”，“有的错误决策可能不造成严重后果”等价于“有的错误决策不一定造成严重后果”。

故选 E.

3. 任何结果都不可能凭空出现，它们的背后都是有原因的；任何背后有原因的事物都可以被人认识，而可以被人认识的事物都必然不是毫无规律的。

根据以上陈述，以下哪项一定为假？【C】

A. 任何结果都可以被人认识。

B. 任何结果出现的背后都是有原因的。

C. 有些结果的出现可能毫无规律。

D. 那些可以被人认识的事物必然有规律。

E. 人有可能认识所有事物。

【解析】

1. 本题涉及知识点：

本题考查必然和或然之间的方阵推理。

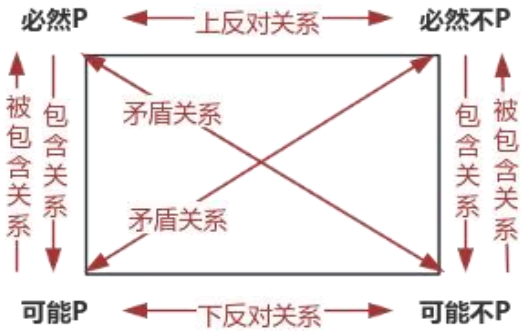

（1）矛盾关系

矛盾关系如上图中对角线上的判断之间的关系。即：“必然 P”和“可能不 P”；“必然不 P”和“可能 P”。具有矛盾关系的两个判断，不能同时为真，也不能同时为假。

（2）反对关系

①上反对关系指方阵中上面两个判断之间的关系

即：“必然 P”和“必然不 P”。具有上反对关系的两个判断，不能同时为真，但却可以同时为假。

②下反对关系指方阵中下面两个判断之间的关系

“可能 P”和“可能不 P”。具有下反对关系的两个判断，不能同时为假，但却可以同时为真。

（3）包含关系

包含关系指方阵中上面的判断与下面对应的判断之间的关系。即："必然 P"和"可能 P"；"必然不 P"和"可能不 P"。

2.技巧方法：

此类题的解题方法是通过根据题干给出的条件，结合必然和或然的对当方阵，并对比选项进行判断。

3.具体过程：

根据题干关键词"都""不可能""必然不"判定为直言和模态命题。题干信息：

①结果→背后有原因。

②背后有原因→可以被人认识。

③被人认识→¬毫无规律的。

A 选项＝结果→可以被人认识，可由①②递推得到，一定为真。

B 选项＝结果→背后有原因，等价于①，一定为真。

C 选项＝结果→毫无规律的，结合①②③递推可得：结果→¬毫无规律的，两者矛盾，一定为假。

D 选项，根据③，必然不是毫无规律，双重否定表肯定，即被人认识必然是有规律的，一定为真。

E 选项，可能为真，若所有事物背后都有原因，那么所有事物就可能被人认识。

故选 C。

4.美国前总统林肯说："最高明的骗子，可能在某个时刻欺骗所有的人，也可能在所有的时刻欺骗某些人，但不可能在所有时刻欺骗所有的人。"

如果林肯的上述断定是真的，那么下述哪项断定是假的？【E】

A.林肯可能在某个时刻受骗。

B.林肯可能在任何时候都不受骗。

C.骗子也可能在某个时刻受骗。

D.不存在某个时刻所有的人都必然不受骗。

E.不存在某一时刻有人可能不受骗。

【解析】

1.本题涉及知识点：

本题考查必然和或然之间的方阵推理。

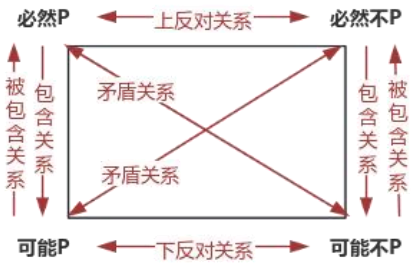

（1）矛盾关系

矛盾关系如上图中对角线上的判断之间的关系。即："必然 P"和"可能不 P"；"必然不 P"和"可能 P"。具有矛盾关系的两个判断，不能同时为真，也不能同时为假。

（2）反对关系

①上反对关系指方阵中上面两个判断之间的关系

即："必然 P"和"必然不 P"。具有上反对关系的两个判断，不能同时为真，但却可以同时为假。

②下反对关系指方阵中下面两个判断之间的关系

"可能 P"和"可能不 P"。具有下反对关系的两个判断，不能同时为假，但却可以同时为真。

（3）包含关系

包含关系指方阵中上面的判断与下面对应的判断之间的关系。即："必然 P"和"可能 P"；"必然不 P"和"可能不 P"。

2. 技巧方法：

此类题的解题方法是通过根据题干给出的条件，结合必然和或然的对当方阵，并对比选项进行判断。

3. 具体过程：

本题考查模态命题的综合应用。A、C 两项都可从题干"最高明的骗子，可能在某个时刻欺骗所有的人"中推出来，因为林肯、骗子都属于所有的人中的一员。根据题干"最高明的骗子不可能在所有时刻欺骗所有的人"，B 项不一定假。根据负命题的等值命题的有关知识，D 项可以进行以下等值推理："不存在某个时刻所有的人都必然不受骗"＝"在所有的时刻不是所有的人都必然不受骗"＝"在所有的时刻有的人不必然不受骗"＝"在所有的时刻有的人可能受骗"。显然，D 项可以从题干"最高明的骗子可能在所有的时刻欺骗某些人"中推出来。

根据负命题的等值命题的有关知识，E 项可以进行下述等值推理："不存在某一时刻有人可能不受骗"＝"在所有时刻不是有人可能不受骗"＝"在所有时刻所有人不可能不受骗"＝"在所有时刻所有人必然受骗"。由题干"但不可能在所有时刻欺骗所有的人"可知 E 项为假。

故选 E。

5. 过往的历史告诉我们一个道理，永远的敌人和永远的朋友是不可能存在的，但是必然存在永远的利益。

如果题干为真，以下选项必然正确的是：【D】

A.可能存在永远的朋友和永远的敌人。

B.不必然存在永远的利益。

C.必然存在永远的朋友。

D.必然不存在永远的朋友和敌人。

E.可能存在永远的朋友但是不存在永远的敌人。

【解析】

1.本题涉及知识点：

本题考查必然和或然之间的方阵推理。

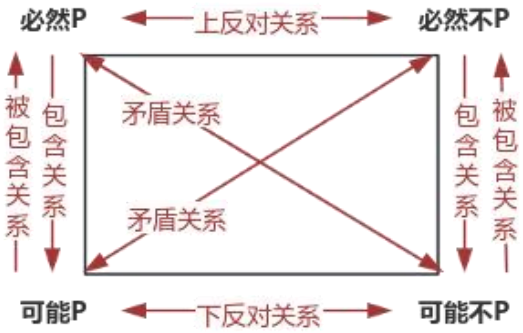

（1）矛盾关系

矛盾关系如上图中对角线上的判断之间的关系。即：“必然 P”和“可能不 P”；“必然不 P”和“可能 P”。具有矛盾关系的两个判断，不能同时为真，也不能同时为假。

（2）反对关系

①上反对关系指方阵中上面两个判断之间的关系

即：“必然 P”和“必然不 P”。具有上反对关系的两个判断，不能同时为真，但却可以同时为假。

②下反对关系指方阵中下面两个判断之间的关系

“可能 P”和“可能不 P”。具有下反对关系的两个判断，不能同时为假，但却可以同时为真。

（3）包含关系

包含关系指方阵中上面的判断与下面对应的判断之间的关系。即：“必然 P”和“可能 P”；“必然不 P”和“可能不 P”。

2.技巧方法：

此类题的解题方法是通过根据题干给出的条件，结合必然和或然的对当方阵，并对比选项进行判断。

3.具体过程：

根据题干，“永远的朋友和永远的敌人是不可能存在的”的含义是不可能存在永远的敌人和永远的朋友，也就是“可能存在永远的敌人和永远的朋友”的矛盾命题，即必然不存在永远的朋友和永远的敌人。A 项是题干的矛盾命题，一定为假；B 项是不必然存在永远的利益，也就是

可能不存在永远的利益，它的矛盾命题是必然存在永远的利益，故与题干相矛盾，不选；C 项说的是必然存在永远的朋友，这与题干相矛盾，故为假，不选；E 项也无法从题干中推断出来。故选 D。

6.人都不可能不犯错误，不一定所有人都会犯严重错误。

如果上述断定为真，则以下哪项一定为真？【C】

A.人都可能会犯错误，但有的人不可能不犯严重错误。

B.人都可能会犯错误，但所有的人都可能不犯严重错误。

C.人都可能会犯错误，但有的人可能不犯严重错误。

D.人都一定会犯错误，但所有的人都可能不犯严重错误。

E.人都一定会犯错误，但有的人一定不犯严重错误。

【解析】

1.本题涉及知识点：

本题考查必然和或然之间的推理。

（一）必然和或然之间的方阵推理

（1）矛盾关系：必一真一假。

（2）上反对关系：至少有一假，一个真来另必假，一个假来另不知。

（3）下反对关系：至少有一真，一个假来另必真，一个真来另不知。

（4）包含关系：上真推下真，下假推上假，其余不确定。

（二）必然、或然和实然之间的推理

（“实然”是指当下正在发生的情况）

（1）必然命题为真，或然和实然命题也都为真。

（2）实然命题为真，只能推出或然命题为真。

2.技巧方法：

此类题的解题方法是通过根据题干给出的条件，结合必然和或然的对当方阵，并对比选项进行判断。

3.具体过程：

“不可能不犯错误”的意思即“必然会犯错误”，也可以得到“人都可能会犯错”。“不一定所有人都会犯严重错误”的意思即“可能有些人不会犯严重错误”。

故选 C。

7.世界上不可能有某种原则适用于所有不同的国度。

以下哪项与上述断定的含义最为接近？【D】

A.有某种原则可能不适用于世界上所有不同的国度。

B.任何原则都不可能有它不适用的国度。

C.任何原则都必然有它所适用的国度。

D.任何原则都可能有它不适用的国度。

E.有些原则可能有它不适用的国度。

【解析】

1.本题涉及知识点：

本题考查必然和或然之间的推理。

（一）必然和或然之间的方阵推理

（1）矛盾关系：必一真一假。

（2）上反对关系：至少有一假，一个真来另必假，一个假来另不知。

（3）下反对关系：至少有一真，一个假来另必真，一个真来另不知。

（4）包含关系：上真推下真，下假推上假，其余不确定。

（二）必然、或然和实然之间的推理

（“实然”是指当下正在发生的情况）

（1）必然命题为真，或然和实然命题也都为真。

（2）实然命题为真，只能推出或然命题为真。

2.技巧方法：

此类题的解题方法是通过根据题干给出的条件，结合必然和或然的对当方阵，并对比选项进行判断。

3.具体过程：

不可能有某种原则适用于所有的国度，即：必然不是有某种原则适用于所有的国度，也就是说必然所有的原则都有它所不适用的国度，可以推出任何原则都可能有它不适用的国度。

故选D。

8.可能有的人喜欢吃甜食。

以下哪项断定的含义，与上述断定最为接近？【C】

A.不可能所有的人都不喜欢吃甜食。

B.不可能所有的人都喜欢吃甜食。

C.不必然所有的人都不喜欢吃甜食。

D.不必然有的人喜欢吃甜食。

E.必然所有的人不喜欢吃甜食。

【解析】

1.本题涉及知识点：

此题考查的是模态命题的等价命题。

（1）必然＝不可能非。

（2）可能＝不必然非。

（3）不可能＝必然不＝一定不。

（4）不必然＝可能不＝不一定＝未必。

2.技巧方法：

此类题的解题方法是通过根据题干给出的条件，结合必然和或然的对当方阵，并对比选项进行判断。

3.具体过程：

可能是等价于不必然不，首先将命题变成它的矛盾命题，除了模态词变矛盾，量词也要变成矛盾，即：必然所有的人不喜欢吃甜食。接着再变一次矛盾就是它的等价命题，只要在命题前加个否定词，即：不必然所有的人不喜欢吃甜食。

故选 C。

9.不可能宏大公司和亚鹏公司都没有中标。

以下哪项最为准确地表达上述断定？【D】

A.宏大公司和亚鹏公司可能都中标。

B.宏大公司和亚鹏公司至少有一个可能中标。

C.宏大公司和亚鹏公司必然都中标。

D.宏大公司和亚鹏公司至少有一个必然中标。

E.如果宏大公司中标，那么亚鹏公司不可能中标。

【解析】

1.本题涉及知识点：

此题考查的是模态命题的等价命题。

（1）必然＝不可能非。

（2）可能＝不必然非。

（3）不可能＝必然不＝一定不。

（4）不必然＝可能不＝不一定＝未必。

2.技巧方法：

此类题的解题方法是通过根据题干给出的条件，结合必然和或然的对当方阵，并对比选项进行判断。

3.具体过程：

根据“不可能 p 并且 q”等值于“必然非 P 或者非 q”，可得：必然或者宏大公司中标或者亚鹏公司中标，即必然宏大公司和亚鹏公司至少有一个中标。不能选 B，因为提问是要找到能够准确表达题干断定的选项。

故选 D。

10.本杰明："除非所有的疾病都必然有确定的诱因，否则有些疾病可能难以预防。"
富兰克林："我不同意你的看法。"
以下哪项断定，最能准确表达富兰克林的看法？【C】
A.有些疾病可能没有确定的诱因，但有些疾病可能加以预防。
B.所有的疾病都可能没有确定的诱因，但有些疾病可能加以预防。
C.有些疾病可能没有确定的诱因，但所有的疾病都必然可以预防。
D.有些疾病必然没有确定的诱因，但所有的疾病都可能加以预防。
E.所有的疾病都必然有确定的诱因，但有些疾病可能难以预防。
【解析】
1.本题涉及知识点：
此题考查的是模态命题的等价命题。
（1）必然＝不可能非。
（2）可能＝不必然非。
（3）不可能＝必然不＝一定不。
（4）不必然＝可能不＝不一定＝未必。
2.技巧方法：
此类题的解题方法是通过根据题干给出的条件，结合必然和或然的对当方阵，并对比选项进行判断。
3.具体过程：
本题考查模态命题与假言命题的矛盾命题。题干中本杰明的看法可以看作：如果不是所有疾病都必然有确定的诱因，那么有些疾病可能难以预防。富兰克林不同意本杰明的看法，即假言命题的矛盾命题"不是所有疾病都必然有确定的诱因，但并非有些疾病可能难以预防"。不是所有疾病都必然有确定的诱因等值于有些疾病不必然有确定的诱因，也就是有些疾病可能没有确定的诱因。并非有些疾病可能难以预防等值于所有疾病不可能难以预防，也就是所有疾病必然可以预防。
故选C。

11.在国际大赛中，即使是优秀的运动员，也有人不必然不失误，当然，并非所有的优秀运动员都可能失误。
以下哪项与上述意思最为接近？【C】
A.优秀运动员都可能失误，其中有的优秀运动员不可能不失误。
B.有的优秀运动员可能失误，有的优秀运动员可能不失误。
C.有的优秀运动员可能失误，有的优秀运动员不可能失误。
D.有的优秀运动员可能不失误，有的优秀运动员不可能失误。
E.有的优秀运动员可能不失误，有的优秀运动员可能失误。

【解析】

1.本题涉及知识点：

此题考查的是模态命题的等价命题。

（1）必然＝不可能非。

（2）可能＝不必然非。

（3）不可能＝必然不＝一定不。

（4）不必然＝可能不＝不一定＝未必。

2.技巧方法：

此类题的解题方法是通过根据题干给出的条件，结合必然和或然的对当方阵，并对比选项进行判断。

3.具体过程：

题干中的意思为有些优秀的运动员不必然不失误，等价于有些优秀运动员可能失误，并非所有的优秀运动员可能失误等价于有些优秀的运动员不可能失误。

故选 C。

12.小糯米和小汤圆围绕地球的运行轨道展开了讨论，小糯米认为：地球的运行轨道必然是椭圆的。

以下哪项与小糯米的观点一致？【E】

A.地球的运行轨道可能是椭圆的。

B.地球的运行轨道必然不是椭圆的。

C.地球的运行轨道不可能是椭圆的。

D.地球的运行轨道不必然是椭圆的。

E.地球的运行轨道不可能不是椭圆的。

【解析】

1.本题涉及知识点：

此题考查的是模态命题的等价命题。

（1）必然＝不可能非。

（2）可能＝不必然非。

（3）不可能＝必然不＝一定不。

（4）不必然＝可能不＝不一定＝未必。

2.技巧方法：

此类题的解题方法是通过根据题干给出的条件，结合必然和或然的对当方阵，并对比选项进行判断。

3.具体过程：

题干信息：模态词是“必然”。A 选项：可能，与题干的“必然”不一致，排除。B 选项：必

然不，与题干的“必然”不一致，排除。C 选项：不可能＝必然不，与题干的“必然”不一致，排除。D 选项：不必然＝可能不，与题干的“必然”不一致，排除。E 选项：不可能不＝必然不不＝必然，与题干的“必然”一致，正确。
故选 E。

13. 小黑：天上可能掉馅饼吗？
小白：不可能！
小黑：我不同意你的观点。
以下哪项与小白的意思一致？【C】
A. 天上可能掉馅饼。
B. 天上可能不掉馅饼。
C. 天上一定不会掉馅饼。
D. 天上不一定会掉馅饼。
E. 天上不一定不会掉馅饼。
【解析】
1. 本题涉及知识点：
此题考查的是模态命题的等价命题。
（1）必然＝不可能非。
（2）可能＝不必然非。
（3）不可能＝必然不＝一定不。
（4）不必然＝可能不＝不一定＝未必。
2. 技巧方法：
此类题的解题方法是通过根据题干给出的条件，结合必然和或然的对当方阵，并对比选项进行判断。
3. 具体过程：
小白：天上不可能掉馅饼＝天上必然不会掉馅饼＝天上一定不会掉馅饼。A 选项：可能，与“一定不”不一致，排除。B 选项：可能不＝不一定，与“一定不”不一致，排除。C 选项：一定不，与小白的意思一致，正确。D 选项：不一定＝可能不，与“一定不”不一致，排除。E 选项：不一定不＝可能不不＝可能，与“一定不”不一致，排除。
故选 C。

14. 小黑：天上可能掉馅饼吗？
小白：不可能！
小黑：我不同意你的观点。
以下哪项与小黑的意思一致？【B】

A.天上不可能掉馅饼。
B.天上可能掉馅饼。
C.天上一定会掉馅饼。
D.天上不一定会掉馅饼。
E.天上不可能不会掉馅饼。
【解析】
1.本题涉及知识点：
此题考查的是模态命题的等价命题。
（1）必然＝不可能非。
（2）可能＝不必然非。
（3）不可能＝必然不＝一定不。
（4）不必然＝可能不＝不一定＝未必。
2.技巧方法：
此类题的解题方法是通过根据题干给出的条件，结合必然和或然的对当方阵，并对比选项进行判断。
3.具体过程：
小黑不同意小白的观点，即需要找小白的观点的矛盾命题，“必然不”的矛盾关系为“可能”，故小黑的观点为：天上可能掉馅饼。A 选项：不可能，与“可能”不一致，排除。B 选项：可能，是小黑的观点，正确。C 选项：一定，与“可能”不一致，排除。D 选项：不一定＝可能不，与“可能”不一致，排除。E 选项：不可能不＝必然不不＝必然，与“可能”不一致，排除。
故选 B。

15.在这次 110 米跨栏比赛中，约翰逊可能获胜。
以下哪个命题与上述命题的意思最为接近？【D】
A.约翰逊不可能在这次 110 米跨栏的比赛中失败。
B.约翰逊必然会在这次 110 米跨栏的比赛中获胜。
C.约翰逊必然会在这次 110 米跨栏的比赛中失败。
D.在这次 110 米跨栏的比赛中，约翰逊并非必然失败。
E.在这次 110 米跨栏的比赛中，约翰逊不可能获胜。
【解析】
1.本题涉及知识点：
此题考查的是模态命题的等价命题。
（1）必然＝不可能非。
（2）可能＝不必然非。

（3）不可能＝必然不＝一定不。

（4）不必然＝可能不＝不一定＝未必。

2.技巧方法：

此类题的解题方法是通过根据题干给出的条件，结合必然和或然的对当方阵，并对比选项进行判断。

3.具体过程：

题干信息：可能获胜。A 选项：不可能失败＝不可能不获胜＝必然不不获胜＝必然获胜，与“可能获胜”不一致，排除。B 选项：必然获胜，与“可能获胜”不一致，排除。C 选项：必然失败＝必然不获胜，与“可能获胜”不一致，排除。D 选项：并非必然失败＝不必然失败＝可能不失败＝可能不不获胜＝可能获胜，正确。E 选项：不可能获胜＝必然不获胜，与“可能获胜”不一致，排除。

故选 D。

16.根据模态判断的对当关系，下列推理正确的是？【A】

Ⅰ.明天不可能不停电，所以明天必然停电。

Ⅱ.苏州人不必然会讲普通话，所以，苏州人可能会讲普通话。

Ⅲ.卢老师可能不住在二楼，所以，卢老师不可能住在二楼。

Ⅳ.今年元旦不可能下雪，所以，今年元旦不下雪是必然的。

A.Ⅰ和Ⅳ。

B.Ⅰ和Ⅲ。

C.Ⅱ和Ⅲ。

D.Ⅰ、Ⅱ和Ⅲ。

E.Ⅱ、Ⅲ和Ⅳ。

【解析】

1.本题涉及知识点：

此题考查的是模态命题的等价命题。

（1）必然＝不可能非。

（2）可能＝不必然非。

（3）不可能＝必然不＝一定不。

（4）不必然＝可能不＝不一定＝未必。

2.技巧方法：

此类题的解题方法是通过根据题干给出的条件，结合必然和或然的对当方阵，并对比选项进行判断。

3.具体过程：

Ⅰ项：不可能＝必然不，因此，不可能不＝必然，推理正确。Ⅱ项：不必然＝可能不，跟后半

段的可能 P 属于下反对关系，一个真来另不知，故无法推出“可能 P”；推理错误。Ⅲ项：不可能＝必然不，“可能不”和“必然不”属于包含关系，但下真上不确定，不能推出“必然不”；推理错误。Ⅳ项：不可能＝必然不，因此不可能下雪＝必然不下雪；推理正确。

故选 A。

17. 以下是某市体委对该市业余体育运动爱好者一项调查中的若干结论：

所有的桥牌爱好者都爱好围棋；有的围棋爱好者爱好武术；所有的武术爱好者都不爱好健身操；有的桥牌爱好者同时爱好健身操。

如果上述结论都是真实的，则以下哪项不可能为真？【E】

A. 所有的围棋爱好者也都爱好桥牌。

B. 有的桥牌爱好者爱好武术。

C. 健身操爱好者都爱好围棋。

D. 有的桥牌爱好者不爱好健身操。

E. 围棋爱好者都爱好健身操。

【解析】

1. 本题涉及知识点：

传递关系	A 对 B 有某种关系，B 对 C 有某种关系； 而 A 对 C 同样具有此种关系。

2. 技巧方法：

此类题的解题方法是通过根据题干给出的条件，利用传递性解答。

3. 具体过程：

题干信息：①桥牌➞围棋；②有的围棋⟹武术；③武术➞¬健身；④有的桥牌⟹健身。由④和③传递可得：⑤有的桥牌⟹健身⟹¬武术。由②和③传递可得：⑥有的围棋⟹武术⟹¬健身。锁定链条首尾找矛盾关系，与⑤矛盾，即所有桥牌爱好者都爱好武术，未发现正确答案。与⑥矛盾，即所有围棋爱好者都爱好健身操，故 E 选项正确。A 选项：围棋➞桥牌。B 选项：有的桥牌⟹武术。C 选项：健身➞围棋。D 选项：有的桥牌⟹¬健身。这四项都不与题干矛盾，排除。

故选 E。

18. 以下是某市体委对该市业余体育运动爱好者一项调查中的若干结论：

所有的桥牌爱好者都爱好围棋；有的围棋爱好者爱好武术；所有的武术爱好者都不爱好健身操；有的桥牌爱好者同时爱好健身操。

如果在题干中再增加一个结论，即每个围棋爱好者爱好武术或者健身操，则以下哪个人的业余体育爱好和题干断定的条件矛盾？【A】

A. 一个桥牌爱好者，既不爱好武术，也不爱好健身操。

B. 一个健身操爱好者，既不爱好围棋，也不爱好桥牌。
C. 一个武术爱好者，爱好围棋，但不爱好桥牌。
D. 一个武术爱好者，既不爱好围棋，也不爱好桥牌。
E. 一个围棋爱好者，爱好武术，但不爱好桥牌。

【解析】

1. 本题涉及知识点：

传递关系	A 对 B 有某种关系，B 对 C 有某种关系； 而 A 对 C 同样具有此种关系。

2. 技巧方法：

此类题的解题方法是通过根据题干给出的条件，利用传递性解答。

3. 具体过程：

问题附加条件：⑦围棋➞武术∨健身。由①和⑦传递可得：⑧桥牌➞围棋➞武术∨健身。锁定链条首尾找矛盾关系：有的桥牌爱好者既不爱好武术，也不爱好健身操。因此，A 选项正确，其他选项均不与题干断定矛盾。

故选 A。

19. 某些经济学家是大学数学系的毕业生，因此，某些大学数学系的毕业生是对企业经营很有研究的人。

下列哪项如果为真，能够保证上述论断的正确？【E】

A. 某些经济学家专攻经济学的某一领域，对企业经营没有太多的研究。
B. 某些对企业经营很有研究的经济学家不是大学数学系毕业的。
C. 所有对企业经营很有研究的人都是经济学家。
D. 某些经济学家不是大学数学系的毕业生，而是学经济学的。
E. 所有经济学家都是对企业经营很有研究的人。

【解析】

1. 本题涉及知识点：

传递关系	A 对 B 有某种关系，B 对 C 有某种关系； 而 A 对 C 同样具有此种关系。

2. 技巧方法：

此类题的解题方法是通过根据题干给出的条件，利用传递性解答。

3. 具体过程：

题干信息：①有些经济⟹数学；②有些数学⟹企业。要由①得出②，需要加上“经济➞企业”。这样就可以形成传递：有些数学⟹经济⟹企业，此时②就成立。E 选项：经济➞企业，正确。

故选 E。

20.某登山旅游小组成员互相帮助，建立了深厚的友谊。后加入的李佳已经获得其他成员多次救助，但是他尚未救助过任何人，救助过李佳的人均曾被王玥救助过，赵欣救助过小组的所有成员，王玥救助过的人也曾被陈蕃救助过。

根据以上陈述，可以得出以下哪项结论？【A】

A.陈蕃救助过赵欣。

B.王玥救助过李佳。

C.王玥救助过陈蕃。

D.陈蕃救助过李佳。

E.王玥没有救助过李佳。

【解析】

1.本题涉及知识点：

本题考查分析推理的列表法和图示法。这两种方法往往在“排序问题”和“分组问题”中能够将题干中的条件图形化，以方便我们进一步的分析。

2.技巧方法：

此类题的解题方法是通过根据题干给出的条件：

（1）列表法：常常用于分类、匹配问题

（2）图示法：常常用于有关排序、方位的问题

3.具体过程：

根据题干“赵欣救助过小组所有人”，可知赵欣救助过李佳，又根据“救助过李佳的人曾被王玥救助过”，可知王玥救助过赵欣。再由“王玥救助过的人陈蕃也救助过”，可得：陈蕃救助过赵欣。故选A。

21.甲和乙任何一人都比丙、丁高。

如果上述为真，再加上以下哪项，可得出“戊比丁高”的结论？【E】

A.戊比甲矮。

B.乙比甲高。

C.乙比甲矮。

D.戊比丙高。

E.戊比乙高。

【解析】

1.本题涉及知识点：

本题考查分析推理的列表法和图示法。这两种方法往往在“排序问题”和“分组问题”中能够将题干中的条件图形化，以方便我们进一步的分析。

2.技巧方法：

此类题的解题方法是通过根据题干给出的条件：

（1）列表法：常常用于分类、匹配问题

（2）图示法：常常用于有关排序、方位的问题

3. 具体过程：

由题干可以知道，甲比丙高、甲比丁高、乙比丙高、乙比丁高，如果要推出“戊比丁高”的结论，需要增加“戊比甲高”或“戊比乙高”作为前提。显然，选项 E“戊比乙高”正好可以与题干中的“乙比丁高”进行传递关系推理，从而得出结论“戊比丁高”。故选 E。

逻辑谬误

1.根据男女出生率，甲和乙展开了辩论。

甲：人口统计发现一条规律：在新生婴儿中，男婴出生率总是维持在 22/43 左右，而不是 1/2。

乙：不对，许多资料都表明，世界上大多数国家和地区，如俄罗斯、日本、德国以及我国台湾省的人口都是女性比男性多。可见，认为男婴出生率在 22/43 上下波动的看法是不正确的。

试分析甲、乙的对话，指出下列哪一个选项能说明甲或乙的逻辑错误？【D】

A.甲所说的统计规律不存在。

B.甲的统计调查不符合科学。

C.乙的资料不可信。

D.乙混淆了概念。

E.乙是以偏概全。

【解析】

1.本题涉及知识点：本题考查逻辑谬误的偷换概念。偷换概念（混淆概念）是指将一些表面相似或相近的概念进行偷换，实际上改变了概念的修饰语、适用范围及所指对象等具体内涵。

如果无意识地违反同一律在概念方面的要求，就会犯“混淆概念”的逻辑谬误。

如果有意识地违反同一律在概念方面的要求，则会犯“偷换概念”的逻辑谬误。

2.技巧方法：

此类题往往会给出一段论述，并且其中会涉及“看似相同”的概念，但事实上其内涵和外延已经发生了改变。当碰到前后相同的概念时，要仔细分析二者的内涵和外延是否相同。

3.具体过程：

乙混淆了婴儿出生时的“男女比例”和社会人口性别构成中的“男女比例”两个不同的概念。可能存在这种情况，婴儿出生时，男性多于女性；但是，后期女性寿命高于男性，人口比例中女性又多于男性。

故选 D。

2.一脸“萌”相的康恩•莱维，看似与其他新生儿并无两样。但因为是全球首例经新一代基因测序技术筛查后的试管婴儿，他的问世，受到了专家学者的关注。前不久，英国伦敦召开的“欧洲人类生殖和胚胎学会年会”上，这则新闻引爆全场。而普通人也由此认为，人类或许迎来了“定制宝宝”的时代。

以下哪项如果为真，最能反驳上述普通人的观点？【C】

A.“人工”的基因筛查不排除会有漏洞；自然受孕中，大自然优胜劣汰准则似乎更为奥妙、有效。

B.从近代科技发展史可见，技术发展往往快于人类认知，有时技术会走得更远，偏离人类认知

的轨道。

C.筛查基因主要是避免生殖缺陷，这一技术为人类优生优育带来契机；至于“定制宝宝”，更多涉及克隆概念，两者不能混淆。

D.“定制宝宝”在全球范围内尚无尝试，这一概念也挑战最具有争议的人类生殖伦理。

E.生物技术飞速发展，“定制宝宝”的时代可能尚未热身就已经被别的时代所取代。

【解析】

1.本题涉及知识点：

本题考查逻辑谬误的偷换概念。

偷换概念（混淆概念）是指将一些表面相似或相近的概念进行偷换，实际上改变了概念的修饰语、适用范围及所指对象等具体内涵。

如果无意识地违反同一律在概念方面的要求，就会犯“混淆概念”的逻辑谬误。

如果有意识地违反同一律在概念方面的要求，则会犯“偷换概念”的逻辑谬误。

2.技巧方法：

此类题往往会给出一段论述，并且其中会涉及“看似相同”的概念，但事实上其内涵和外延已经发生了改变。当碰到前后相同的概念时，要仔细分析二者的内涵和外延是否相同。

3.具体过程：

题干信息：普通人的观点。前提：新一代基因测序技术筛查后的试管婴儿问世。一结论：人类或许迎来了“定制宝宝”的时代。第一步，分析普通人的观点。前提强调“基因筛查技术后的试管婴儿”，结论强调“定制宝宝”，考生试想，要想保证普通人的观点成立，必须建立假设：基因筛查的技术可以完全达到定制宝宝的要求。直接针对隐含的假设进行削弱，力度最强。第二步，分析选项。C 选项直接说明基因筛查的技术更多的是避免缺陷，有很大的局限性，根本不可能达到定制宝宝的要求，直接削弱假设，力度最强。A 选项直接针对普通人观点的前提进行削弱，力度较弱；B 选项与题干论证无关；选项 D 和 E 只针对普通人观点的结论进行削弱，力度较弱，并且“具有争议”“可能”等词削弱力度也较弱。故选 C。

3.依照 8 小时工作制，一个人每天工作的时间不超过 1/3，依此以一年 365 天计，个人每年工作的时间不超过全年的 1/3，即不超过 122 天。去年在某企业供职的张珊除了每周休息两天外（合计 104 天），只在法定节假日休息（合计 27 天），这样，张珊去年实际工作的天数是 234 天，明显超过上述 122 天。因此，去年该企业一定没有严格执行 8 小时工作制。

以下哪项对上述论证的评价最为恰当？【C】

A.上述论证成立。

B.上述论证有漏洞，它忽略了上述 122 天不包括周末和节假日。

C.上述论证有漏洞，它忽略了上述 122 天并不是指 122 个工作日。

D.上述论证有漏洞，它忽略了上述 122 天是以严格执行 8 小时工作制推算出来的。

E.上述论证有漏洞，它忽略了除了法定节假日外，企业一般都有公休假。

【解析】

1.本题涉及知识点：

本题考查逻辑谬误的偷换概念。

偷换概念（混淆概念）是指将一些表面相似或相近的概念进行偷换，实际上改变了概念的修饰语、适用范围及所指对象等具体内涵。

如果无意识地违反同一律在概念方面的要求，就会犯“混淆概念”的逻辑谬误。

如果有意识地违反同一律在概念方面的要求，则会犯“偷换概念”的逻辑谬误。

2.技巧方法：

此类题往往会给出一段论述，并且其中会涉及“看似相同”的概念，但事实上其内涵和外延已经发生了改变。当碰到前后相同的概念时，要仔细分析二者的内涵和外延是否相同。

3.具体过程：

第一步，分析题干。前提：①依照8小时工作制，一个人每年工作的时间不超过全年的1/3，即不超过122天。②在某企业供职的张珊去年实际工作的天数是234天，明显超过122天。结论：去年该企业一定没有严格执行8小时工作制。第二步，前提中122天指的是工作时间（完全投入在工作中的时间，即每天工作24小时），结论中的122天指的则是工作天数（投入工作的天数，即每天上班时间不可能是24小时），显然论证过程偷换了概念。故选C。

4.有一种观点认为，到21世纪初，和发达国家相比，发展中国家将有更多的人死于艾滋病。其根据是：据统计，艾滋病毒感染者人数在发达国家趋于稳定或略有下降，在发展中国家却持续快速上升；到21世纪初，估计全球的艾滋病毒感染者将达到4000万至1.1亿，其中，60%将集中在发展中国家。这一观点缺乏充分的说服力。因为同样权威的统计数据表明，发达国家的艾滋病毒感染者从感染到发病的平均时间要大大短于发展中国家，而从发病到死亡的平均时间只有发展中国家的二分之一。

以下哪项最为恰当地概括了上述反驳所使用的方法？【B】

A.对“论敌”的立论提出质疑。

B.指出“论敌”把两个相近的概念当作同一个概念使用。

C.对“论敌”的论据的真实性提出质疑。

D.提出一个反例来否定“论敌”的一般性结论。

E.提出“论敌”在论证中没有明确具体的时间范围。

【解析】

1.本题涉及知识点：

本题考查逻辑谬误的偷换概念。

偷换概念（混淆概念）是指将一些表面相似或相近的概念进行偷换，实际上改变了概念的修饰语、适用范围及所指对象等具体内涵。

如果无意识地违反同一律在概念方面的要求，就会犯“混淆概念”的逻辑谬误。

如果有意识地违反同一律在概念方面的要求，则会犯“偷换概念”的逻辑谬误。

2. 技巧方法：

此类题往往会给出一段论述，并且其中会涉及“看似相同”的概念，但事实上其内涵和外延已经发生了改变。当碰到前后相同的概念时，要仔细分析二者的内涵和外延是否相同。

3. 具体过程：

题干中所反驳的观点是；到 21 世纪初，和发达国家相比，发展中国家将有更多的人死于艾滋病。其根据是；艾滋病毒感染者人数在发达国家趋于稳定或略有下降，在发展中国家却持续快速上升。题干对此所作的反驳实际上指出：上述观点把“死于艾滋病的人数”和“感染艾滋病毒的人数”这两个相近的概念错误地当作同一概念来使用。艾滋病毒感染者人数在发达国家虽低于发展中国家，但由于发达国家的艾滋病毒感染者从感染到发病，以及从发病到死亡的平均时间要大大短于发展中国家。因此，其实际死于艾滋病的人数仍可能多于发展中国家。因此，B 项恰当地概括了题干中的反驳所使用的方法，其余各项均不恰当。

5. 统计显示，在汽车事故中，装有安全气囊汽车的比例高于未装安全气囊的汽车。因此，在汽车中装有安全气囊，并不能使车主更安全。

以下哪项最为恰当地指出了上述论证的漏洞？【D】

A. 不加说明就予假设：任何装有安全气囊的汽车都可能遭遇汽车事故。

B. 忽视了这种可能性：未装安全气囊的车主更注意谨慎驾驶。

C. 不当的假设：在任何汽车事故中，安全气囊都会自动打开。

D. 不当地把发生汽车事故的可能程度，等同于车主在事故中受伤害的严重程度。

E. 忽视了这种可能性：装有安全气囊的汽车所占的比例越来越大。

【解析】

1. 本题涉及知识点：

本题考查逻辑谬误的偷换概念。

偷换概念（混淆概念）是指将一些表面相似或相近的概念进行偷换，实际上改变了概念的修饰语、适用范围及所指对象等具体内涵。

如果无意识地违反同一律在概念方面的要求，就会犯“混淆概念”的逻辑谬误。

如果有意识地违反同一律在概念方面的要求，则会犯“偷换概念”的逻辑谬误。

2. 技巧方法：

此类题往往会给出一段论述，并且其中会涉及“看似相同”的概念，但事实上其内涵和外延已经发生了改变。当碰到前后相同的概念时，要仔细分析二者的内涵和外延是否相同。

3. 具体过程：

第一步，整理题干论证。前提：在汽车事故中，装有安全气囊汽车发生事故的比例高于未装安全气囊的汽车。→结论：装有安全气囊并不能使车主更安全。第二步，分析题干论证。题干前提强调的是汽车发生事故概率的对比；而结论强调的是事故后车主受伤程度的对比。二者显然

是不同论证范围下的概念，故选 D。

6.这所大学的学生学习了很多课程，小马是这所大学的一名学生，所以她学习了很多的课程。以下哪项论证展示的推理错误与上述论证中的最相似？【B】

A.这所学校里的学生都学习数学这门功课，小马是这所学校的一名学生，所以他也学习数学这门功课。

B.这本法律期刊的编辑们写了许多法律方面的文章，老李是其中的一名编辑，所以他也写过许多法律方面的文章。

C.这所大学的大多数学生学习成绩很好，小贞是这所大学的一名学生，所以她的学习成绩很好。

D.所有的旧汽车需要经常换零件，这部汽车是新的，所以不需要经常换零件。

E.独立的大脑细胞是不能够进行思考的，所以整个大脑也不能够进行思考。

【解析】

1.本题涉及知识点：

本题考查逻辑谬误的集合概念的误用。

集合体性质误用一般是指从整体推出部分时，混淆集合概念与非集合概念的错误。也就是说，整体具有的性质和特征有时部分并不具有，却误认为整体具有的属性部分也具有。

2.技巧方法：

此类题往往会给出一段论述，并且其中会涉及“看似相同”的概念，而这种概念往往可以做集合概念也可以做非集合概念，当遇到时要仔细分析此处是否是集合概念。

3.具体过程：

该项和题干的三段论推理中都存在“四概念”错误。题干中的中项“这所大学的学生”表达的是集合概念，而“这所大学的一名学生”则是非集合概念。B 项中的中项“这本法律期刊的编辑们”是一个集合概念，而“一名编辑”则是一个非集合概念。故选 B。

7.通信部队的士兵学习了不少步兵战术，赵洪是通信部队的士兵，所以他也学习了不少步兵战术。

以下哪项与上述论述最为相似？【B】

A.哲学系的学生都学《微积分》这门课程，张中是哲学系的一名学生，所以她学习了《微积分》这门课程。

B.一个工厂的工人参加了不少科普讲座，老马是一个工厂的一名工人，所以他也参加了不少科普讲座。

C.所有的旧电脑软件需要经常升级，这个电脑软件是新的，所以不需要经常升级。

D.参加这次演出的成员多数是女学生，张中参加了这次演出，所以她也是女学生。

E.哲学系的教师写了许多哲学方面的论文，老张不是哲学系的一名教师，所以他没有写过哲学方面的论文。

【解析】

1.本题涉及知识点：

本题考查逻辑谬误的集合概念的误用。

集合体性质误用一般是指从整体推出部分时，混淆集合概念与非集合概念的错误。也就是说，整体具有的性质和特征有时部分并不具有，却误认为整体具有的属性部分也具有。

2.技巧方法：

此类题往往会给出一段论述，并且其中会涉及“看似相同”的概念，而这种概念往往可以做集合概念也可以做非集合概念，当遇到时要仔细分析此处是否是集合概念。

3.具体过程：

该项和题干的三段论推理中都存在“四概念”错误。题干中的中项“通信部队的士兵”第一次出现时表达的是集合概念，而第二次出现时则表达的是非集合概念。B 项中的中项“一个工厂的工人”是一个集合概念，而“一个工厂的一名工人”则是一个非集合概念。注意排除 E 项，因为该项的第二个前提和结论都是否定句；A 项，因为该项中的中项“哲学系的学生”是非集合概念。故选 B。

8.某对外营业游泳池更衣室的入口处贴着一张启事，称“凡穿拖鞋进入泳池者，罚款五至十元”。某顾客问：“根据有关法规，罚款规定的制定和实施，必须由专门机构进行，你们怎么可以随便罚款呢？”工作人员回答：“罚款本身不是目的。目的是通过罚款，来教育那些缺乏公德意识的人，保证泳池的卫生。”上述对话中工作人员所犯的逻辑错误，与以下哪项中出现的最为类似？【B】

A.管理员：“每个进入泳池的同志必须戴上泳帽，没有泳帽的到售票处购买。”某顾客：“泳池中那两位同志怎么没戴泳帽？”管理员：“那是本池的工作人员。”

B.市民：“专家同志，你们制定的市民文明公约共 15 条 60 款，内容太多，不易记忆，可否精简，以便直接起到警示的作用。”专家：“这次市民文明公约，是在市政府的直接领导下，组织专家组，在广泛听取市民意见的基础上制定的，是领导、专家、群众三结合的产物。”

C.甲：什么是战争？ 乙：战争是两次和平之间的间歇。甲：什么是和平？乙：和平是两次战争之间的间歇。

D.甲：为了使我国早日步入发达国家之列，应该加速发展私人汽车工业。乙：为什么？甲：因为发达国家私人都有汽车。

E.甲：一样东西，如果你没有失去，就意味着你仍然拥有。是这样吗？乙：是的。甲：你并没有失去尾巴。是这样吗？乙：是的。甲：因此，你必须承认，你仍然有尾巴。

【解析】

1.本题涉及知识点：

本题考查逻辑谬误的转移论题。

如果无意识地违反同一律在命题和辩论方面的要求，就会犯“转移论题”的逻辑谬误；如果有

意识地违反同一律在命题和辩论方面的要求，就会犯“偷换论题”的逻辑谬误。

2.技巧方法：

此类题往往会给出一段论述，但前后论述没有保持一致，而是转移“话题”。

3.具体过程：

本题题干中，顾客问的是怎么可以随便罚款，而工作人员回答的是罚款的目的，答非所问，犯了转移论题的谬误。选项中，B 也是类似的谬误，市民问能否精简，专家答公约是怎么制定出来的，也是答非所问，犯了转移论题的谬误。至于 A 选项，管理员的回答有漏洞，工作人员实际也是进入泳池的同志，但这属于概念划分不清的错误。CDE 虽然也有各自的问题，但都还是在讨论同一个话题，没有转移论题。故选 B。

9.为了预测大学生毕业后的就业意向，《就业指南》杂志在大学生中进行了一次问卷调查，结果显示，超过半数的答卷都把教师作为首选的职业。这说明，随着我国教师社会地位和经济收入的提高，大学生毕业后普遍不愿意当教师的现象已经成为过去。

以下哪项如果为真，将严重削弱上述结论？【C】

A.目前我国教师的平均收入，和各行业相比，仍然是中等偏下。

B.被调查者虽然遍布全国 100 多所院校，但总人数不过 1000 多人。

C.被调查者半数是师范院校的学生。

D.《就业指南》并不是一份很有影响的杂志。

E.上述调查的问卷回收率超过 90%。

【解析】

1.本题涉及知识点：

本题考查论据不足谬误的轻率概况与以偏概全。

轻率概括是样本太小或样本不具有代表性而导致的推理错误。样本太小不能满足样本容量方面的要求，而使样本缺乏代表性，由此，不足以概括出代表总体特征的结论。

以偏概全是由于忽视样本属性的异质性，或者根据有偏颇的样本所做出的概括。由于抽样不当而导致的偏颇样本的谬误是以偏概全的标准形式。

2.技巧方法：

此类题往往会给出一段论述，其结论基于不具代表性的样本而得到关于整体的结论。

3.具体过程：

根据题干可知，前提：问卷调查中超过半数都把教师作为首选职业→结论：大学生毕业后愿意当教师。A 选项不能削弱。选项未涉及题干论证关系，“教师平均收入低”也不能割裂调查数据与结论的关系。“收入”是影响择业的因素，但“一年两个假期”这种优势何尝不是？B 选项：虽然“100 多所院校”“人数不过 10”，但如果抽样恰当，也没有不足之处，选项质疑调查本身，而非论证关系。C 选项说明题干论证“以偏概全”，师范院校毕业生把教师作为首选职业是很正常的事情，不能反映全部的大学毕业生的就业情况，即前提推不出结论。D 选项，

杂志影响力有限，不代表调查出的结论有误，不能削弱。E 选项支持题干论证，说明调查具有一定的代表性。故选 C。

10.公达律师事务所以为刑事案件的被告进行有效辩护而著称，成功率达 90%以上。老余是一位以专门为离婚案件的当事人成功代理而著称的律师。因此，老余不可能是公达律师事务所的成员。

以下哪项最为确切地指出了上述论证的漏洞？【A】

A.公达律师事务所具有的特征，其成员不一定具有。

B.没有确切指出老余为离婚案件的当事人辩护的成功率。

C.没有确切指出老余为刑事案件的当事人辩护的成功率。

D.没有提供公达律师事务所统计数据的来源。

E.老余具有的特征，其所在工作单位不一定具有。

【解析】

1.本题涉及知识点：

本题考查论据不足谬误的轻率概况与以偏概全。

轻率概括是样本太小或样本不具有代表性而导致的推理错误。样本太小不能满足样本容量方面的要求，而使样本缺乏代表性，由此，不足以概括出代表总体特征的结论。

以偏概全是由于忽视样本属性的异质性，或者根据有偏颇的样本所做出的概括。由于抽样不当而导致的偏颇样本的谬误是以偏概全的标准形式。

2.技巧方法：

此类题往往会给出一段论述，其结论基于不具代表性的样本而得到关于整体的结论。

3.具体过程：

根据题干，前提：①公达律师事务所以刑事案件著称；②老余是以离婚案件著称。结论：老余不是公达律师事务所的成员。A 项整体具有的特征，个体未必具有，指明题干漏洞，属于整体推个体错误。B 项：题干中不涉及成功率，整体的成功率也决定不了个体的成功率。C 项：题干中不涉及成功率，整体的成功率也决定不了个体的成功率。D 项削弱了前提。E 选项的意思是“以偏概全”，个体推出整体，题干意思显然是整体推不出个体。故选 A。

11.《花与美》杂志受 A 市花鸟协会委托，就 A 市评选市花一事对杂志读者群进行了民意调查，结果 60%以上的读者将荷花选为市花，于是编辑部宣布，A 市大部分市民赞成将荷花定为市花。以下哪项如果属实，最能削弱该编辑部的结论？【B】

A.有些《花与美》读者并不喜欢荷花。

B.《花与美》杂志的读者主要来自 A 市一部分收入较高的女性市民。

C.《花与美》杂志的有些读者并未在调查中发表意见。

D.市花评选的最后决定权是 A 市政府而非花鸟协会。

E.《花与美》杂志的调查问卷将荷花放在十种候选花的首位。

【解析】

1.本题涉及知识点：

本题考查论据不足谬误的轻率概况与以偏概全。

轻率概括是样本太小或样本不具有代表性而导致的推理错误。样本太小不能满足样本容量方面的要求，而使样本缺乏代表性，由此，不足以概括出代表总体特征的结论。

以偏概全是由于忽视样本属性的异质性，或者根据有偏颇的样本所做出的概括。由于抽样不当而导致的偏颇样本的谬误是以偏概全的标准形式。

2.技巧方法：

此类题往往会给出一段论述，其结论基于不具代表性的样本而得到关于整体的结论。

3.具体过程：

第一步，整理题干论证。前提；60%以上《花与美》杂志的读者将荷花选为市花。→结论：A市大部分市民赞成将荷花定为市花。第二步，分析题干论证。题干可能存在“以偏概全”的错误，《花与美》杂志的读者只是代表了A市很小一部分人的民意，无法等同A市的大部分市民的民意。故选B。

12.在谈到反恐战争时，总统说：“如果你不支持反恐战争，你就是支持恐怖分子”。以上论述犯了什么逻辑谬误？【A】

A.非黑即白。

B.自相矛盾。

C.偷换概念。

D.论据不足。

E.推不出。

【解析】

1.本题涉及知识点：

本题考查论据不足谬误的非黑即白。

非黑即白主要是指属于反对关系的A和B被误认为是矛盾关系。比如：不是朋友就是敌人。显然在人与人的关系中，除了朋友和敌人两种关系，还存在既不是朋友也不是敌人的关系。

2.技巧方法：

此类题往往会给出一段论述，却错误的把反对关系当作矛盾关系，而忽略了其他的可能性。

3.具体过程：

总统只给出了两个选项，强迫人们二选一。但事实上，有人不支持反恐战争，或许只是不喜欢战争本身，跟是不是反恐关系不大，当然更不代表就是支持恐怖分子。属于非黑即白，故选A。

13.按照上帝创世说，上帝在第一天创造了地球，第二天创造了月亮，第三天创造了太阳。因此，地球存在的头三天没有太阳。

以下哪项最为确切地指出了上述断定的逻辑漏洞？【D】

A.没有太阳，一片漆黑，上帝如何创造地球？

B.上帝创世说是一种宗教想象，完全没有科学依据。

C.上述断定带着地球中心说的痕迹，在科学史上，地球中心说早被证明是错误的。

D.“一天”的概念是由太阳对于地球的起落周期来定义的。

E.众所周知，没有太阳就没有万物。

【解析】

1.本题涉及知识点：

本题考查论据不足谬误的自相矛盾。

自相矛盾主要是指同时肯定矛盾或反对关系的两组概念，此时违反了矛盾律。比如：今年过节不收礼，收礼只收脑白金。同时肯定了不收礼和收脑白金这组反对关系，就属于犯了自相矛盾的谬误。

2.技巧方法：

此类题往往会给出一段论述，当认为互相矛盾的概念和命题同时为真时，就会犯自相矛盾的错误。

3.具体过程：

注意：考试试题前后核心概念是相同或相似的词项时，一定要注意判断是否存在混淆概念的情况，这是一个很重要的细节。

正如D选项所言：“一天”的概念是由太阳对于地球的起落周期来定义，因此，题干中称“地球存在的头三天没有太阳”，也就没有了“一天”的参照标准——“太阳的起落”，“头三天”也就不可能存在。因此，题干的论证犯了“自相矛盾”的逻辑错误。故选D。

14.在经济发展中，我们并不以GDP的快速增长作为我们的目标，当然，我们的经济发展目标也离不开GDP的快速增长.以上论述犯了什么逻辑谬误？【D】

A.转移论题。

B.自相矛盾。

C.偷换概念。

D.模棱两可。

E.推不出。

【解析】

1.本题涉及知识点：

本题考查论据不足谬误的两不可/模棱两可。

两不可主要是指同时否定属于矛盾关系的两组概念，此时违反了排中律。比如：这种观点既不

属于唯物主义，又不属于唯心主义。同时否定了唯物主义和唯心主义这组矛盾关系。

2.技巧方法：

模棱两可与自相矛盾的区别是，自相矛盾同时肯定矛盾双方，而两不可是同时否定矛盾双方。

3.具体过程：

前后两句貌似有观点，但没有任何明确的主张，本题中 GDP 增长到底是不是经济发展的目标模棱两可，故选 D。

15.小王很胖，同时他还很喜欢吃。小王是因为吃才导致了他很胖。以上论述犯了什么逻辑谬误？【D】

A.转移论题。

B.自相矛盾。

C.偷换概念。

D.强置因果。

E.推不出。

【解析】

1.本题涉及知识点：

本题考查论据不足谬误的强加因果。

原因与结果具有空间共存性和时间先后性。但具有空间共存性与时间先后性的事物之间不一定有因果关系。仅仅根据空间上共存或时间上先行后续，就确定存在因果关系，这种谬误称为“强置因果”。

（1）若仅仅根据空间上共存，就确定有因果关系，属于“因果无关”。比如，认为玩手机会导致皮肤病。

（2）若仅仅根据时间上先行后续，就确定有因果关系，属于“事后归因”。比如，认为自己考试能拿到高分是因为报了补习班。

2.技巧方法：

错误地认为因果关系的两个现象之间存在因果关系，就存在强加因果的逻辑谬误。

3.具体过程：

强置因果，因为还有其他的可能，比如小王平时特别不喜欢运动也会导致该结果，故选 D。

16.干细胞遍布人体，因为拥有变成任何类型细胞的能力而令科学家们着迷，这种能力意味着它们有可能修复或者取代受损的组织。而通过激光刺激干细胞生长很有可能实现组织生长，因此研究人员认为激光技术或许将成为医学领域的一种变革工具。

以下哪项如果为真，最能支持上述结论？【D】

A.不同波段的激光对机体组织作用的原理尚不清楚。

B.已有病例表明，激光会对儿童视网膜造成损伤，影响视力。

C.目前激光刺激生长法尚未在人类机体上进行试验，风险还待评估。

D.用激光治疗带有牙洞的臼齿，受损的牙体组织能逐渐恢复。

E.激光治疗过后因不同体质会出现不同的后遗症，较难恢复。

【解析】

1.本题涉及知识点：

本题考查相关谬误的“诉诸类谬误”。

（1）人们断定一件事物是正确，只是因为它未被证明是错误；或断定一件事物是错误，只因为它未被证明是正确，都属于诉诸无知。

（2）“诉诸权威”是指诉诸不相关领域的权威或错误地将权威说的当成必然正确的。假设专家甲是领域乙的权威，因此他对领域乙的发言是可靠的，但如果将专家甲在领域丙的言论也视为可靠，就是属于诉诸不相关领域的权威。另一种诉诸权威的谬误是将权威说的当成必然正确的，虽然专家甲是领域乙的权威，但其观点正确与否应该基于论据是否充分或结果是否真实，尤其是对于专家彼此争辩中的、尚未取得共识的议题。

（3）“诉诸公众”是指在论证一个观点时，不是阐述支持论点的论据以及它们之间的因果关系，而是以该论点得到了多数人的赞同作为论点正确的理由。事实上，一个观点的正确与否，与它本身有多少人赞同没有关系：既有可能“群众的眼睛是雪亮的”，也有可能“真理掌握在少数人手中”。

（4）“诉诸人身”是指在论证过程中，将立论或反驳的重心指向提出论点的人，而不是论点本身。比如，用某个人的名字不好听来判断他无法获得成功。

（5）“诉诸情感”是指在论证过程中，通过打动人心，影响他人情感来让人们肯定或否定论点，而不是运用逻辑本身去说服别人。

2.技巧方法：

对于诉诸类逻辑谬误，考试时往往标志词较为明显，只需根据记住对应的特征即可。

3.具体过程：

结论：激光技术或许将成为医学领域的一种变革工具。

A 项是在说“原理尚不清楚”，但是题干是在讨论激光技术是否能成为医学领域的变革工具，A 项就属于诉诸无知，对于题干讨论的内容 A 项并未提及，不能支持题干结论，排除。

B 项，通过举例说明激光会对人体产生损伤，则激光技术可能无法成为医学领域的变革工具，反而削弱了题干结论，排除。

C 项是在说“未在人体实验，风险还待评估”，和 A 项类似，也属于诉诸无知，据此是无法说明激光技术是否能成为医学领域的变革工具的，所以不能支持题干结论，排除。

D 项，通过举例说明激光可以实现组织生长，则激光技术可能成为医学领域的变革工具，支持了题干结论。

E 项，说明治疗后会有后遗症，且难以恢复。不能支持，排除。

故本题选 D。

17.有研究人员声称找到了一种全新的控制糖尿病人血糖浓度的方法，这种新疗法的关键就是咖啡因。他们对患有糖尿病的小鼠进行了试验，当小鼠摄入咖啡因的时候，对于血糖浓度的控制能力比没有摄入咖啡因的小鼠好。研究人员据此认为，以往通过注射胰岛素控制糖尿病人血糖浓度的方法在未来也可以被摄入咖啡因替代。

以下哪项如果为真，最能支持上述结论？【D】

A.上述研究成果被发表在全球顶尖的医学期刊上。

B.每天注射胰岛素对于糖尿病患者来说比较麻烦。

C.研究证明咖啡因可以降低直肠癌和黑色素瘤的发病风险。

D.小鼠和人类一样，体内的肾细胞吸收咖啡因会促进胰岛素的产生。

E.该方法并未在人类身上进行临床试验，具体效果无法确定。

【解析】1.本题涉及知识点：

本题考查相关谬误的“诉诸类谬误”。

（1）人们断定一件事物是正确，只是因为它未被证明是错误；或断定一件事物是错误，只因为它未被证明是正确，都属于诉诸无知。

（2）“诉诸权威”是指诉诸不相关领域的权威或错误地将权威说的当成必然正确的。假设专家甲是领域乙的权威，因此他对领域乙的发言是可靠的，但如果将专家甲在领域丙的言论也视为可靠，就是属于诉诸不相关领域的权威。另一种诉诸权威的谬误是将权威说的当成必然正确的，虽然专家甲是领域乙的权威，但其观点正确与否应该基于论据是否充分或结果是否真实，尤其是对于专家彼此争辩中的、尚未取得共识的议题。

（3）“诉诸公众”是指在论证一个观点时，不是阐述支持论点的论据以及它们之间的因果关系，而是以该论点得到了多数人的赞同作为论点正确的理由。事实上，一个观点的正确与否，与它本身有多少人赞同没有关系：既有可能“群众的眼睛是雪亮的”，也有可能“真理掌握在少数人手中”。

（4）“诉诸人身”是指在论证过程中，将立论或反驳的重心指向提出论点的人，而不是论点本身。比如，用某个人的名字不好听来判断他无法获得成功。

（5）“诉诸情感”是指在论证过程中，通过打动人心，影响他人情感来让人们肯定或否定论点，而不是运用逻辑本身去说服别人。

2.技巧方法：

对于诉诸类逻辑谬误，考试时往往标志词较为明显，只需根据记住对应的特征即可。

3.具体过程：

题干通过当小鼠摄入咖啡因的时候，对于血糖浓度的控制能力比没有摄入咖啡因的小鼠好，得出以往通过注射胰岛素控制糖尿病人血糖浓度的方法在未来也可以被摄入咖啡因替代。A项仅说明该研究成果被发表在全球顶尖的医学期刊上，没有实质性论据，不代表该研究成果就一定是正确的，属于诉诸权威，不能很好地支持题干结论，排除；B项注射胰岛素是否麻烦，与咖啡因是否能有效控制血糖浓度无关，属无关项，排除；C项直肠癌和黑色素瘤与控制糖尿病人

的血糖浓度无关，属无关项，排除；D 项说明人和小鼠一样能够通过肾细胞吸收咖啡因促进胰岛素的产生，进而控制血糖浓度，即说明可以用摄入咖啡因的方式来替代注射胰岛素，支持了题干结论。E 选项说明该方法的作用效果不确定，无法支持题干，排除。
故本题选 D。

18. 一家刚开业的大型超市决定开展降价促销活动，部分商品售价甚至低于成本价，在这种情况下，销售量越大，超市的经济损失就越大。这一决定遭到很多超市员工反对，但超市经理依然坚持这一决定。
以下最能支持经理决定的一项是【C】
A. 薄利多销的方式有利于提高超市销售收入。
B. 物美价廉的商品更容易受到消费者的欢迎。
C. 扩大知名度对于新开业的超市至关重要。
D. 许多超市在开业时都开展降价促销活动。
E. 很多超市的促销活动结束后客流量大幅减少，没过多久就关闭了。
【解析】1. 本题涉及知识点：
本题考查相关谬误的“诉诸类谬误”。
（1）人们断定一件事物是正确，只是因为它未被证明是错误；或断定一件事物是错误，只因为它未被证明是正确，都属于诉诸无知。
（2）“诉诸权威”是指诉诸不相关领域的权威或错误地将权威说的当成必然正确的。假设专家甲是领域乙的权威，因此他对领域乙的发言是可靠的，但如果将专家甲在领域丙的言论也视为可靠，就是属于诉诸不相关领域的权威。另一种诉诸权威的谬误是将权威说的当成必然正确的，虽然专家甲是领域乙的权威，但其观点正确与否应该基于论据是否充分或结果是否真实，尤其是对于专家彼此争辩中的、尚未取得共识的议题。
（3）“诉诸公众”是指在论证一个观点时，不是阐述支持论点的论据以及它们之间的因果关系，而是以该论点得到了多数人的赞同作为论点正确的理由。事实上，一个观点的正确与否，与它本身有多少人赞同没有关系：既有可能“群众的眼睛是雪亮的”，也有可能“真理掌握在少数人手中”。
（4）“诉诸人身”是指在论证过程中，将立论或反驳的重心指向提出论点的人，而不是论点本身。比如，用某个人的名字不好听来判断他无法获得成功。
（5）“诉诸情感”是指在论证过程中，通过打动人心，影响他人情感来让人们肯定或否定论点，而不是运用逻辑本身去说服别人。
2. 技巧方法：
对于诉诸类逻辑谬误，考试时往往标志词较为明显，只需根据记住对应的特征即可。
3. 具体过程：

A 选项说的是薄利多销能提高超市收入，但是该超市的降价促销活动会出现售价低于成本价的情况，这不属于“薄利多销”，故 A 项无关，排除。B 选项说的是物美价廉的商品容易受欢迎，但是该超市的降价促销活动会带来经济损失，此时越受欢迎损失就越大，故 B 项无法支持经理的决定，排除。C 项说的是扩大知名度对于新开业的超市很重要，该超市就是新开业的超市，此时通过牺牲一定的利润换来知名度的扩大是合理的做法，故 C 项支持了经理的决定，保留。D 项说的是许多超市都在开业时降价促销，这就是典型的“诉诸大众”。显然，许多超市都这么做并不代表这家超市也该这么做，故 D 项无关，排除。E 项说很多超市活动后客流量会大幅减少，甚至超市都开不下去了，这很可能是促销损失的经济无法收回而导致超市倒闭，所以对经理的决定是有削弱作用的，排除。故选 C。

19.诉诸人身是一种逻辑谬误，用论证者自身或别人在人身即人格或处境上的优势作为论据来论证某一个命题的真理性。论据与论题之间只具有心理上的相关性，并不具有逻辑上的相关性。根据上述定义，下列选项中体现了诉诸人身的是【B】

A.鬼是存在的，因为很多人都说见到过鬼。

B.办公室小王人缘好，品格高尚，所以他的话可信。

C.某人杀害了其父母，律师请求宽大处理的理由是此人现在成为了孤儿。

D.李某找到老师说：“如果您给我不及格，我的奖学金就没了”。

E.某品牌的运动鞋是某体育明星代言的，肯定质量好。

【解析】

1.本题涉及知识点：

本题考查相关谬误的“诉诸类谬误”。

（1）人们断定一件事物是正确，只是因为它未被证明是错误；或断定一件事物是错误，只因为它未被证明是正确，都属于诉诸无知。

（2）“诉诸权威”是指诉诸不相关领域的权威或错误地将权威说的当成必然正确的。假设专家甲是领域乙的权威，因此他对领域乙的发言是可靠的，但如果将专家甲在领域丙的言论也视为可靠，就是属于诉诸不相关领域的权威。另一种诉诸权威的谬误是将权威说的当成必然正确的，虽然专家甲是领域乙的权威，但其观点正确与否应该基于论据是否充分或结果是否真实，尤其是对于专家彼此争辩中的、尚未取得共识的议题。

（3）“诉诸公众”是指在论证一个观点时，不是阐述支持论点的论据以及它们之间的因果关系，而是以该论点得到了多数人的赞同作为论点正确的理由。事实上，一个观点的正确与否，与它本身有多少人赞同没有关系：既有可能“群众的眼睛是雪亮的”，也有可能“真理掌握在少数人手中”。

（4）“诉诸人身”是指在论证过程中，将立论或反驳的重心指向提出论点的人，而不是论点本身。比如，用某个人的名字不好听来判断他无法获得成功。

（5）“诉诸情感”是指在论证过程中，通过打动人心，影响他人情感来让人们肯定或否定论

点，而不是运用逻辑本身去说服别人。

2.技巧方法：

对于诉诸类逻辑谬误，考试时往往标志词较为明显，只需根据记住对应的特征即可。

3.具体过程：

第一步，根据提问方式，确定为选是题。第二步，找关键信息。用论证者自身或别人在人身即人格或处境上的优势作为论据来论证某一个命题的真理性。第三步，辨析选项。A 项："很多人都说见到过鬼"，不是优势，不符合定义；B 项：认为小王品格高尚，所以他的话可信，属于用人格的优势作为论据，符合定义；C 项："成为了孤儿"，不是人格或处境上的优势，不符合定义；D 项：李某找老师求情，不是人格或处境上的优势，不符合定义。E 项：认为明星代言的产品质量好，这不是人格或处境上的优势，而是权威效益。故选 B。

20.王女士带儿子去商店购物，儿子把商店门口的盆栽推倒了。商家要求孩子道歉，王女士却说："他还只是个孩子啊，你怎么能跟一个孩子过不去！"。则以下哪项与该女士回答的方式最为相似？【B】

A.邻居："我没有借过你的吸尘器。如果我借了，我肯定会归还的，现在你说我没归还，这说明我没有借过。"

B.推销员："看我这么辛苦地为您服务，嗓子都说哑了，您就多买几件吧！"

C.法医："尸检发现死者在胸部有三处枪伤，每处都可能致命，我把它们分别标为 A、B 和 C。如果不是 A 直接导致毙命，那么就是 B 或 C，如果不是 B，那就一定是 C。"

D.医生："生命是有机体的新陈代谢，而有机体是有生命的个体。"

E.孙悟空："如果打白骨精，师父会念紧箍咒；如果不打，师父就会被妖精吃掉。所以我还是回花果山算了。"

【解析】

1.本题涉及知识点：

本题考查相关谬误的"诉诸类谬误"。

（1）人们断定一件事物是正确，只是因为它未被证明是错误；或断定一件事物是错误，只因为它未被证明是正确，都属于诉诸无知。

（2）"诉诸权威"是指诉诸不相关领域的权威或错误地将权威说的当成必然正确的。假设专家甲是领域乙的权威，因此他对领域乙的发言是可靠的，但如果将专家甲在领域丙的言论也视为可靠，就是属于诉诸不相关领域的权威。另一种诉诸权威的谬误是将权威说的当成必然正确的，虽然专家甲是领域乙的权威，但其观点正确与否应该基于论据是否充分或结果是否真实，尤其是对于专家彼此争辩中的、尚未取得共识的议题。

（3）"诉诸公众"是指在论证一个观点时，不是阐述支持论点的论据以及它们之间的因果关系，而是以该论点得到了多数人的赞同作为论点正确的理由。事实上，一个观点的正确与否，与它本身有多少人赞同没有关系：既有可能"群众的眼睛是雪亮的"，也有可能"真理掌握在

少数人手中”。

（4）“诉诸人身”是指在论证过程中，将立论或反驳的重心指向提出论点的人，而不是论点本身。比如，用某个人的名字不好听来判断他无法获得成功。

（5）“诉诸情感”是指在论证过程中，通过打动人心，影响他人情感来让人们肯定或否定论点，而不是运用逻辑本身去说服别人。

2. 技巧方法：

对于诉诸类逻辑谬误，考试时往往标志词较为明显，只需根据记住对应的特征即可。

3. 具体过程：

本题为比较逻辑谬误的论证题。题干借助孩子的身份来打动商家的同情心，属于诉诸情感。只有 B 选项也是诉诸情感，以自己的辛苦博得对方的同情，故选 B。