管理类专业学位硕士研究生入学统一考试

管综

管理类联考 2025 真题

适用于MBA、MPA、MPAcc、MEM

2025年全国硕士研究生招生考试管理类专业学位联考综合能力试题

一、问题求解：第1～15小题，每小题3分，共45分。下列每题给出的A、B、C、D、E五个选项中，只有一项是符合试题要求的。

1.两瓶酒精溶液体积相同，酒精与水的体积之比分别为1:2和2:3，将这两瓶酒精溶液混合，混合后酒精与水的体积之比为【B】

A.7:13

B.11:19

C.23:27

D.3:5

E.5:7

【解析】本题考查应用题——浓度问题.

两瓶酒精的体积相同，设为15L.

则酒精溶液A：酒精5L，水10L；

酒精溶液B：酒精6L，水9L.

混合后溶液：酒精11L，水19L.

故选B.

2.已知圆、正方形、等边三角形的周长分别为a、b、c。若他们的面积相等，则【A】

A.a<b<c

B.a<c<b

C.b<a<c

D.b<c<a

E.c<b<a

【解析】本题考查平面几何.

圆的半径$r=\frac{a}{2\pi}$，正方形的边长$m=\frac{b}{4}$，等边三角形的边长$n=\frac{c}{3}$.

面积分别为$\pi\left(\frac{a}{2\pi}\right)^2=\frac{a^2}{4\pi}$，$\frac{b^2}{16}$，$\frac{\sqrt{3}}{4}\left(\frac{c}{3}\right)^2=\frac{\sqrt{3}c^2}{36}$.

有$\frac{a^2}{4\pi}=\frac{b^2}{16}=\frac{\sqrt{3}c^2}{36}$，显然a<b<c.

故选A.

3.某人骑车从甲地前往乙地，前三分之一路程的平均速度是 12km/h，中间三分之一路程的平均速度是 18km/h，后三分之一路程的平均速度是 12km/h.此人全程的平均速度是【C】

A.12.5km/h

B.13km/h

C.13.5km/h

D.14km/h

E.14.5km/h

【解析】本题考查应用题——行程问题.

$$\begin{array}{r|rr} 6 & 12 & 18 \\ \hline & 2 & 3 \end{array}$$

$\therefore [12,18] = 6 \times 2 \times 3 = 36.$

设每一段路程为$s = 36\text{km}$，则

$t_1 = \frac{36}{12} = 3h$，$t_2 = \frac{36}{18} = 2h$，$t_3 = \frac{36}{12} = 3h.$

$\therefore \overline{v} = \frac{3s}{t_1+t_2+t_3} = \frac{3\times36}{3+2+3} = 13.5\text{km/h}$

故选 C.

4.一项任务，甲单独完成需要 15 天，甲、乙两人共同完成需要 6 天，甲、乙、丙三人共同完成需要 4 天，现在乙单独工作 1 天后，余下工作由甲、丙两人共同完成，还需要【C】

A.4 天

B.5 天

C.6 天

D.7 天

E.8 天

【解析】本题考查应用题——工程问题.

$$\begin{array}{r|rrr} 3 & 15 & 6 & 4 \\ \hline 2 & 5 & 2 & 4 \\ \hline & 5 & 1 & 2 \end{array}$$

$\therefore [15,6,4] = 3 \times 2 \times 5 \times 1 \times 2 = 60.$

设工作总量为 60.

则$v_{甲} = \frac{60}{15} = 4$，$v_{甲+乙} = \frac{60}{6} = 10$，$v_{甲+乙+丙} = \frac{60}{4} = 15.$

则$v_{甲} = 4$，$v_{乙} = 6$，$v_{丙} = 5.$

剩余工作 $60 - 6 = 54$，$54 \div (4+5) = 6$ 天.

故选 C.

5. 如图，圆的半径为 2，圆心角∠AOB=120°，点 C 是劣弧$\widehat{AB}$上的动点，则四边形 AOBC 面积的最大值为【B】

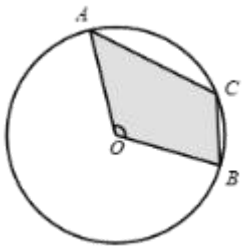

A. $\sqrt{3}$

B. $2\sqrt{3}$

C. 4

D. $3\sqrt{3}$

E. $4\sqrt{3}$

【解析】本题考查平面图形.

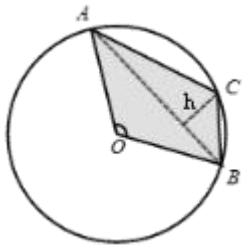

$\because S_{AOBC} = S_{AOB} + S_{ABC}$

∴当 h 最大时，S_{ABC}最大.

∴当 C 为劣弧$\widehat{AB}$的中点时，四边形 AOBC 为菱形.

$\therefore S_{AOBC} = 2S_{AOC} = 2 \times \frac{\sqrt{3}}{4} \times 2^2 = 2\sqrt{3}$.

故选 B.

6. 如图，在大半球中挖去一个同心小半球，小半球直径为大半球直径的一半。若小半球的体积为 $20cm^3$，则剩下部分的体积为【B】

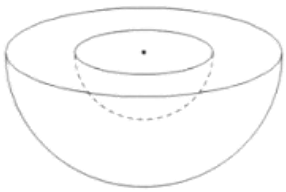

A. $160cm^3$

B. $140cm^3$

C. $100cm^3$

D. $80cm^3$

E. $60cm^3$

【解析】本题考查立体几何.

$\because r:R=1:2.$

$\therefore v_{小}:\ v_{大}=\frac{1}{2}\cdot\frac{4}{3}\pi r^3:\ \frac{1}{2}\cdot\frac{4}{3}\pi(2r)^3=1:8.$

$\because v_{小}=20.$

$\therefore v_{大}=160.$

$\therefore$剩余部分的体积为 $160-20=140$

故选 B.

7. 某单位举行田径赛，参加田赛项目有 50 人，参加径赛项目有 45 人，已知该单位有 90 名员工，其中 18 人未参加比赛，若两类项目均参加的女员工有 5 名，则两类项目均参加的男员工有【E】

A. 10 人

B. 12 人

C. 14 人

D. 16 人

E. 18 人

【解析】本题考查应用题——集合问题.

设参加田赛项目为集合 A，参加径赛项目为集合 B.

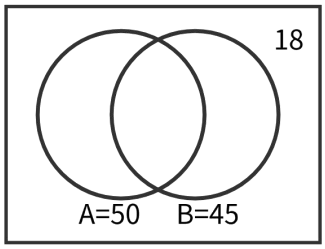

$\because A\cup B=A+B-A\cap B$

$\therefore 90-18=50+45-A\cap B$

$\therefore A\cap B=23$

$\therefore$两类项目均参加的男员工为 $23-5=18$ 人.

故选 E.

8. 已知点 A 是圆$x^2+y^2-16x-12y+75=0$ 的圆心，过原点 O 作该圆的一条切线，切点为 B，则三角形 AOB 的面积为【E】

A. $\frac{15}{2}\sqrt{5}$

B. $15\sqrt{5}$

C. 25

D. $25\sqrt{3}$

E. $\frac{25}{2}\sqrt{3}$

【解析】本题考查平面几何.

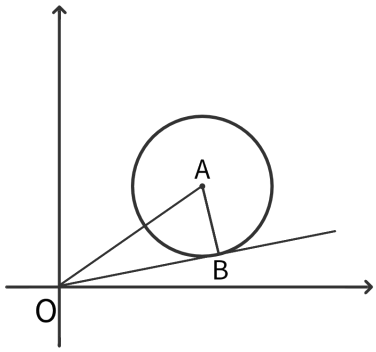

$\because x^2+y^2-16x-12y+75=0 \Rightarrow (x-8)^2+(y-6)^2=25.$

$\therefore$圆心 A(8,6)，则根据勾股定理，$AO=10.$

$\because AB=5.$

$\therefore OB=\sqrt{10^2-5^2}=5\sqrt{3}.$

$\therefore S_{AOB}=\frac{1}{2}\cdot AB\cdot OB=\frac{1}{2}\times 5\times 5\sqrt{3}=\frac{25\sqrt{3}}{2}.$

故选 E.

9. $1+2-3+4+5-6+7+8-9+10+\ldots+97+97-99=$【D】

A. 1 536

B. 1 551

C. 1 568

D. 1 584

E. 1 617

【解析】本题考查整式及其运算和等差数列之和.

观察等式规律：原式$=(1+2-3)+(4+5-6)+(7+8-9)+\ldots+(97+97-99)$

$=0+3+6+\ldots+96=\frac{33(0+96)}{2}=1\,584.$

故选 D.

10.如图，在边长为 1 的正方形 ABCD 中，E,F 分别为 AB，AD 的中点，DE,BF 交于点 O.四边形 BCDO 的面积为【A】

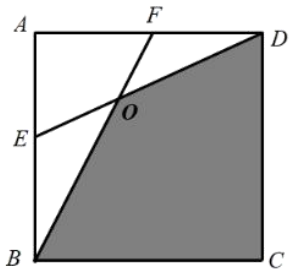

A. $\frac{2}{3}$

B. $\frac{3}{4}$

C. $\frac{5}{9}$

D. $\frac{7}{12}$

E. $\frac{11}{18}$

【解析】本题考查平面几何.

连接 AO，E,F 为 AB,AD 中点，则图中四个三角形的面积相等为 S.

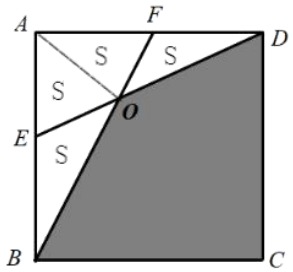

$\because S_{AFB}=\frac{1}{2}\times\frac{1}{2}\times 1=\frac{1}{4}$.

$\therefore 3S=\frac{1}{4}\Rightarrow S=\frac{1}{12}\Rightarrow 4S=\frac{1}{3}$.

$\therefore$四边形 BCDO 的面积 $S=1-\frac{1}{3}=\frac{2}{3}$

故选 A.

11.100 个小球中有两个次品，将 100 个球任意装 10 箱，每箱 10 个，则次品在同一箱的概率为【D】

A. $\frac{1}{5}$

B. $\frac{2}{11}$

C. $\frac{1}{10}$

D. $\frac{1}{11}$

E. $\frac{9}{100}$

【解析】本题考查古典概率.

两个次品在同一箱的概率 $P=\frac{C_{10}^{1}C_{10}^{2}}{C_{100}^{2}}=\frac{1}{11}$.

故选 D.

12.某公司有甲、乙、丙三个股东，甲的股份是丙的 2.4 倍，乙的股份是丙的 3 倍，现年底分红。红利的 20%三人平分，剩余的三人按股份比例分配，已知丙最终分的 450 万元。问年底红利一共有多少【A】

A.2 400 万

B.2 100 万

C.1 800 万

D.1 200 万

E.1 000 万

【解析】本题考查应用题——比例问题.

甲乙丙股份比例为 $2.4:3:1=12:15:5$，设年底红利为 x.

则丙应分得$\frac{0.2x}{3}+\frac{0.8x}{12+15+5}\times 5=460$.

解得$x=2\ 400$.

故选 A.

13.一个箱里有 2 个白球，3 个红球，4 个黑球随机取 2 个小球，问取到同色的概率是多少【D】

A. $\frac{1}{6}$

B. $\frac{1}{4}$

C. $\frac{7}{36}$

D. $\frac{5}{18}$

E. $\frac{1}{3}$

【解析】本题考查古典概率.

取到同色的概率 $P=\frac{C_2^2+C_3^2+C_4^2}{C_9^2}=\frac{10}{36}=\frac{5}{18}$.

故选 D.

14. a, b, c, d 都为正整数，若 $\frac{29}{35}=\frac{b}{a}+\frac{d}{c}$，则 $a+b+c+d$ 的最小值为【C】

A. 15

B. 16

C. 17

D. 18

E. 24

【解析】本题考查应用题——不定方程.

$\frac{29}{35}=\frac{b}{a}+\frac{d}{c}=\frac{bc+ad}{ac}\Rightarrow\begin{cases}ac=35\\bc+ad=29\end{cases}$.

要使$a+b+c+d$最小，且都为正整数.

不妨设 $a=5, c=7$.

则 $bc+ad=29\Rightarrow 7b+5d=29\Rightarrow b=2, d=3$.

则 $a+b+c+d=5+2+7+3=17$.

故选 C.

15. 如图，A, B, C, D, E 五个集装箱堆放成两组，每次运走某组最上面一堆，将 5 个集装箱全部运走不同搬运顺序为【C】

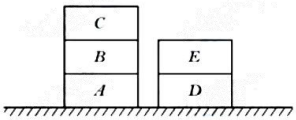

A. 5 种

B. 6 种

C. 10 种

D. 12 种

E. 15 种

【解析】本题考查排列组合.

根据题意，在集装箱搬运的过程中，有 C 在 B 前，B 在 A 前，E 在 D 前.

则$\frac{A_5^5}{A_3^3A_2^2}=10$ 种.

故选 C.

二、条件充分性判断：第 16～25 小题，每小题 3 分，共 30 分。要求判断每题给出的条件（1）和条件（2）能否充分支持题干所陈述的结论。A、B、C、D、E 五个选项为判断结果，请选择一项符合试题要求的判断。

A.条件（1）充分，但条件（2）不充分。

B.条件（2）充分，但条件（1）不充分。

C.条件（1）和（2）单独都不充分，但条件（1）和条件（2）联合起来充分。

D.条件（1）充分，条件（2）也充分。

E.条件（1）和（2）单独都不充分，条件（1）和条件（2）联合起来也不充分。

16.甲、乙、丙三人共同完成了一批零件的加工，三人的工作效率互不相同，已知他们的工作效率之比，则能确定这批零件的数量.【D】

（1）已知甲、乙两人加工零件数量之差.

（2）已知甲、丙两人加工零件数量之和.

【解析】本题考查应用题——工程问题.

根据题干，设甲乙丙的效率比为$a:b:c(a>b>c)$，则甲乙丙的工作数量为ak,bk,ck.

条件（1）：设甲乙两人加工零件数量之差为m，则 $\mathrm{ak}-\mathrm{bk}=m\Rightarrow k=\frac{m}{a-b}$.

$\because m$与$a-b$已知，$\therefore k$已知.

$\therefore$ak, bk, ck 都能确定.

则条件（1）充分.

条件（2）：设甲丙两人加工零件数量之和为n，则$ak+ck=n\Rightarrow \mathrm{k}=\frac{n}{\mathrm{a+c}}$.

$\because n$与$a+c$已知，$\therefore k$已知.

$\therefore ak,bk,ck$都能确定.

则条件（2）也充分.

故选 D.

17.设 m，n 为正整数，则能确定 m，n 的乘积.【C】

（1）已知 m，n 的最大公约数.

（2）已知 m，n 的最小公倍数.

【解析】本题考查实数.

$\because mn=(m,n)\times[m,n]$.

$\therefore$只有当(m,n)和[m,n]都已知时，能确定 mn 的值.

故选 C.

18.甲班 34 人，乙班 36 人，在满分为 100 的考试中，甲班总分数与乙班总分数相等，则可知两班的平均分之差.【E】

（1）两班的平均分都是整数.

（2）乙班的平均分不低于 65 分.

【解析】本题考查数据描述.

设甲、乙两班的总分数都为m，则甲班的平均分为$\frac{m}{34}$，乙班的平均分为$\frac{m}{36}$.

条件（1）：两班的平均分都是整数，求两数的最小公倍数.

$$\begin{array}{r|rr} 2 & 34 & 36 \\ \hline & 17 & 18 \end{array}$$

$\therefore [34,36] = 2 \times 17 \times 18 = 612.$

$\therefore m = 612k$(且$m \leq 3\,400$).

则 m 的值有多种情况.

条件（1）不充分.

条件（2）：乙班的平均分不低于 65 分，则$\frac{m}{36} \geq 65 \Rightarrow m \geq 2\,340$(且 $\mathrm{m} \leq 3\,400$).

此时 m 的值也有多种情况.

条件（2）不充分.

两条件联合：则有$\begin{cases} m = 612k \\ m \geq 2\,340. \\ m \leq 3\,400 \end{cases}$

解得$\begin{cases} k = 4 \\ m = 2\,448 \end{cases}$，$\begin{cases} \mathrm{k} = 5 \\ \mathrm{m} = 3\,060 \end{cases}$两种情况.

则两个班的平均分之差也有两种情况，故联合也不充分.

故选 E.

19. 如图，在菱形 ABCD 中，M，N 分别为 AD 和 CD 的中点. P 是 AC 上的动点，则能确定 PM+PN 的最小值.【B】

（1）已知 AC.

（2）已知 AB.

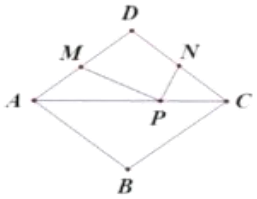

【解析】本题考查平面几何.

作 N 关于 AC 的对称点N_1，则N_1为 BC 边的中点，连接$M\mathrm{N}_1$，如图所示.

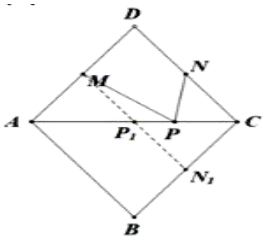

此时$PM+PN$的最小值等价于$PM+PN_1$，则MN_1为 $\mathrm{PM}+\mathrm{PN}$ 的最小值.

在菱形 ABCD 中，$\mathrm{MN}_1=AB$.

则条件（2）充分.

故选 B.

20. 在分别标记了数字 1, 2, 3, 4, 5，a 的 6 张卡片中随机抽取 2 张，则这两张卡片上的数字之和为奇数的概率大于$\frac{1}{2}$.【D】

（1）a=7

（2）a=8

【解析】本题考查概率.

条件（1）：当 a=7，有 4 张奇数，2 张偶数.

要抽到和为奇数，则需要抽 1 奇 1 偶，即$\frac{C_4^1C_2^1}{C_6^2}=\frac{8}{15}>\frac{1}{2}$.

则条件（1）充分.

条件（2）：当 a=7，有 3 张奇数，3 张偶数.

要抽到和为奇数，则需要抽 1 奇 1 偶，即$\frac{C_3^1C_3^1}{C_6^2}=\frac{9}{15}>\frac{1}{2}$.

则条件（2）也充分.

故选 D.

21. 设 a，b 为实数，则$(a+b\sqrt{2})^{\frac{1}{2}}=1+\sqrt{2}$.【A】

（1）a=3，b=2

（2）$(a-b\sqrt{2})(3+2\sqrt{2})=1$

【解析】本题考查整式与分式及其运算.

条件（1）：当 a=3，b=2 时，

$$(a+b\sqrt{2})^{\frac{1}{2}}=\sqrt{3+2\sqrt{2}}=\sqrt{1^2+2\sqrt{2}+(\sqrt{2})^2}=\sqrt{(1+\sqrt{2})^2}=1+\sqrt{2}.$$

则条件（1）充分.

条件（2）：$a-b\sqrt{2}=\frac{1}{3+2\sqrt{2}}=\frac{3-2\sqrt{2}}{(3+2\sqrt{2})(3-2\sqrt{2})}=3-2\sqrt{2}\Rightarrow\begin{cases}a=3\\b=2\end{cases}$或$\begin{cases}a=-2\sqrt{2}\\b=-\frac{3}{2}\sqrt{2}\end{cases}$.

则条件（2）不充分.

故选 A.

22. 设 p，q 是常数，若等腰三角形的底和腰的长是方程 $x^2-3px+q=0$ 的两个不同根，则能确定该三角形形状.【A】

（1）$q\le 2p^2$

（2）$p\ge 2$

【解析】本题考查平面几何.

设方程 $x^2-3px+q=0$ 的两个不同根为 x_1，x_2.

则 $x_1+x_2=3p$，$x_1x_2=q$.

根据求根公式：$x_1=\frac{3p+\sqrt{9p^2-4q}}{2}$，$x_2=\frac{3p-\sqrt{9p^2-4q}}{2}$.

方法一：

条件（1）：$q\le 2p^2$

则 $x_1=\frac{3p+\sqrt{9p^2-4q}}{2}\ge\frac{3p+\sqrt{9p^2-8p^2}}{2}=2p$，$x_2=\frac{3p-\sqrt{9p^2-4q}}{2}\ge\frac{3p-\sqrt{9p^2-8p^2}}{2}=p$.

由三角形的两边之和大于第三边，x_2 只能为底，x_1 为腰一种情况.

则条件（1）充分.

条件（2）：仅知道 p 的取值，q 的取值不确定，所以不确定根的大小.

则条件（2）不充分.

故选 A.

方法二：设等腰三角形的腰长为 x_1，底长为 x_2.

根据三角形的三边关系可得：$\begin{cases}x_1+x_1>x_2\\x_1+x_2>x_1\\x_2+x_2\le x_1\end{cases}\Rightarrow\begin{cases}x_1>\frac{x_2}{2}\\x_1\ge 2x_2\end{cases}\Rightarrow x_1\ge 2x_2$.

因此 $\frac{3p+\sqrt{9p^2-4q}}{2}\ge 2\cdot\frac{3p-\sqrt{9p^2-4q}}{2}\Rightarrow\sqrt{9p^2-4q}\ge p\Rightarrow 9p^2-4q\ge p^2$.

则 $8p^2\ge 4q\Rightarrow q\le 2p^2$.

则条件（1）充分.

故选 A.

23. 设 x，y 是实数，则 $\sqrt{2x^2+2y^2}-|x|-y^2\ge 0$.【B】

（1）$|x|\le 1$

（2）$|y|\le 1$

【解析】本题考查绝对值.

条件（1）：取特例$x=0$.则$\sqrt{2x^2+2y^2}-|x|-y^2=\sqrt{2}|y|-y^2$.

由于$\sqrt{2}|y|-y^2\ge 0$ 不只有唯一解.

则条件（1）单独不充分.

条件（2）：$\sqrt{2x^2+2y^2}-|x|-y^2\ge 0\Rightarrow\sqrt{2x^2+2y^2}\ge|x|+y^2$.

两边同时平方：$2x^2+2y^2\ge x^2+2|x|y^2+y^4\Rightarrow x^2-2|x|y^2+y^4+2y^2-2y^4\ge 0$

$\Rightarrow(|x|-y^2)^2+2y^2(1-y^2)\ge 0$.

要使此不等式成立，只需 $1-y^2\ge 0$.

则$|y|\le 1$.

则条件（2）充分.

故选 B.

24. 已知 a_1, a_2，…，a_5为实数，则 a_1, a_2，…，a_5为等差数列.【E】

（1）$a_1+a_5=a_2+a_4$

（2）$a_1+a_5=2a_3$

【解析】本题考查数列.

条件（1）：对a_3没有条件限制，则不能确定构成等差数列.故条件（1）不充分.

条件（2）：$a_1+a_5=2a_3$，只能说明a_1,a_3,a_5构成等差数列. 故条件（2）不充分.

两条件联合：举反例$a_1=1$，$a_2=2$，$a_3=5$，$a_4=8$，$a_5=9$，则不能确定构成等差数列.

故联合也不充分.

故选 E.

25. 已知曲线L：$y=a(x-1)(x-7)$. 则能确定实数a的值.【C】

（1）L与圆$(x-4)^2+(y+1)^2=10$ 有三个交点.

（2）L与圆$(x-4)^2+(y-4)^2=25$ 有四个交点.

【解析】本题考查一元二次函数与解析几何.

曲线 L：$y=a(x-1)(x-7)$与 x 轴的两个交点分别为$(1,0),(7,0)$

条件（1）：曲线与圆$(x-4)^2+(y+1)^2=10$ 有三个交点，如图所示，有$a>0$ 与$a<0$ 两种情况.

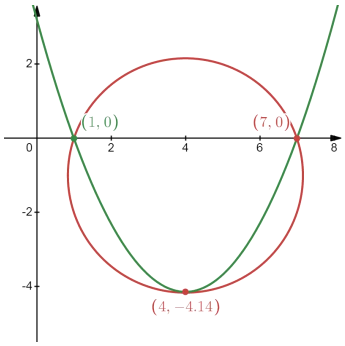

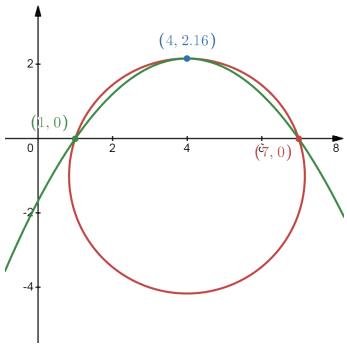

则条件（1）不充分.

条件（2）：曲线与圆$(x-4)^2+(y-4)^2=25$有四个交点，如图所示，有更多种情况，不能确定 a 的值.

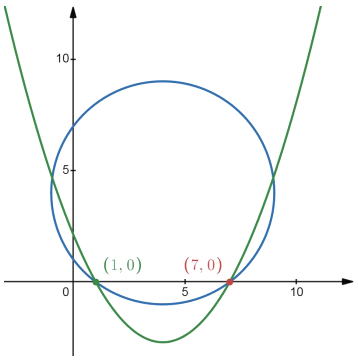

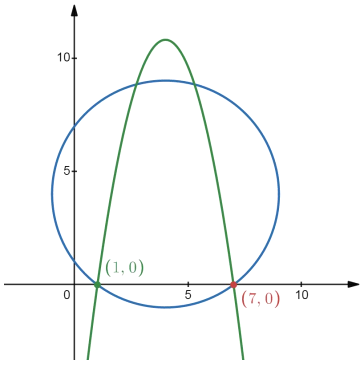

则条件（2）不充分.

两条件联合：当曲线与圆$(x-4)^2+(y+1)^2=10$有三个交点且与圆$(x-4)^2+(y-4)^2=25$有四个交点时，有且只有以下一种情况，则能确定 a 的值. 即充分.

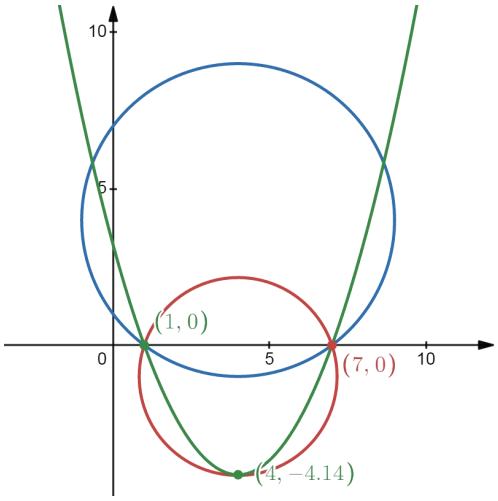

故选 C.

三、逻辑推理：第 26～55 小题，每小题 2 分，共 60 分。下列每题给出的 A、B、C、D、E 五个选项中，只有一项是符合试题要求的。

请在答题卡上将所选项的字母涂黑。

26.以艺通心，是传统文化的核心艺术精神之一。艺术的本质是人内心世界的外化，通过艺术人们既可以表达自己的内心世界，也可以看到别人的内心世界。由此有专家认为，艺术可通心，对于促进不同国家、不同语言、不同文化之间人们的沟通交流具有天然优势。

以下哪项如果为真，最能支持上述专家的观点？【B】

A.目前，全球有九大语系7000多种语言，对大多数人而言，进行跨文化沟通交流存在相当大的语言障碍。

B.事实上，我们可以听懂、看懂千百年之前的音乐、绘画作品，可以不借助翻译而直接通过艺术作品感受世界各地人民的情感脉动。

C.传统文化认为，“唯乐不可以为伪”，即艺术来不得半点虚假，必须是创作者内心的真实写照，必须忠实反映创作者内心的真情实感。

D.艺术具有基于人性、传达情感、诉诸形式、付诸感性等特点，在艺术创造、传播、接受、反馈过程中，这些特点对于任何人都是一样的。

E.要借助艺术实现跨文化沟通交流，仅有艺术的共情是不够的，还须将文化融入其中，以文化人，这样才能真正实现以艺通心。

【解析】本题考查论证推理——支持。

论点：艺术可通心，对于促进不同文化、语言背景的人们之间的沟通交流具有天然优势。

A选项只是说明了跨文化沟通存在语言障碍，但并未直接说明艺术如何能够克服这些障碍，因此与加强论点无关。

B选项直接提供了实例，说明艺术能够跨越时间和文化的界限，让人们直接感受到他人的情感，从而加强了艺术在跨文化沟通中的天然优势。

C选项强调了艺术的真实性，但并未直接说明艺术如何促进跨文化沟通，因此与加强论点关系不大。

D选项描述了艺术的普遍特点，但并未直接说明这些特点如何使艺术在跨文化沟通中具有优势。

E选项实际上是在说艺术沟通有其局限性，需要文化的辅助，这与加强艺术在跨文化沟通中的天然优势相悖。

故选B。

27.研究人员对近12万名50岁及以上受访者进行调查后发现，大约有一半的受访者每天久坐10小时或更长。在随后的五年内，这些习惯久坐的人当中有805人陆续死亡。他们还发现，如果每天增加10分钟的活动，则每天久坐不到10小时的死亡风险可降低15%，而超过10小时的死亡风险可降低35%。研究人员由此认为，每天活动20分钟可减少久坐危害，降低死亡风险。

以下哪项如果为真，最能质疑上述研究人员的观点？【C】

A.在已经离世的805人中，357人每天久坐不到10小时，448人每天久坐10小时或更长。

B.每天 20 分钟的活动指的是快步走、爬山、骑行等运动强度较大的活动，对此许多中老年人难以坚持。

C.随着年龄增大，中老年人的身体机能会逐渐下降，即使每天活动 20 分钟，其久坐时间也会越来越长，死亡风险也随之增加。

D.许多久坐者认为，每天只需花 20 分钟活动，就可以长时间坐着阅读、追剧或工作，哪怕一天累计久坐 10 小时以上也无妨。

E.每天活动 20 分钟，并不意味着每天活动可以减少到 20 分钟，20 分钟只是正常人一天活动的最低要求，为了健康，活动时间可以更长一些。

【解析】本题考查论证推理——削弱。

论点：每天活动 20 分钟可减少久坐危害，降低死亡风险。

论据：大约有一半的受访者每天久坐 10 小时或更长，在随后的五年内，这些习惯久坐的人中有 805 人陆续死亡。每天增加 10 分钟的活动可以降低久坐不到 10 小时和超过 10 小时的死亡风险。

A 选项只是提供了离世者的久坐时间分布，但并未直接质疑活动 20 分钟能否降低死亡风险，因此削弱力度有限。

B 选项虽然指出了活动形式的难度，但并未直接说明活动 20 分钟不能降低死亡风险，只是说明了实施上的困难，因此削弱力度不强。

C 选项直接质疑了论点的有效性，即尽管每天活动 20 分钟，但由于身体机能的下降，久坐时间和死亡风险仍然可能增加，从而削弱了研究人员的观点。

D 选项只是描述了久坐者的主观想法，并未直接质疑活动 20 分钟能否降低死亡风险，因此削弱力度有限。

E 选项讨论了活动时间的长度问题，但并未直接质疑活动 20 分钟能否降低由久坐带来的死亡风险，因此与论点的削弱关系不大。

故选 C。

28.南方人习惯元宵节吃汤圆，这一习俗古已有之。有人将汤圆追溯至先秦时期南方流行的小吃“蜜饵”，《楚辞》中曾提到过它；也有人认为是唐朝时元宵节吃的一种称作“面茧”的带馅馒头。但有民俗学家指出，汤圆真正的前身是宋代被称为“圆子”的小吃。

以下哪项如果为真，能支持上述民俗学家的观点？【C】

A.“蜜饵”虽是一种用糯米粉裹以蜂蜜制成的糕点，但它不是元宵节的专属美食。

B.马宋代的“圆子”是用黑芝麻、猪油、白糖作圆，以糯米粉搓成圆形的“乳糖圆子”。

C.宋代诗人周必大写的《元宵煮浮圆子》是迄今发现的最早描述元宵节水煮汤圆的诗歌。

D.宋代饮食文化十分发达，相比于其他朝代，“圆子”种类更加繁多，比如山药圆子、珍珠圆子、金橘水团等。

E.只有宋人常写涉及“圆子”的诗词，如南宋女诗人朱淑真曾在其《圆子》诗中写有“轻圆绝胜鸡头肉，滑腻偏宜蟹眼汤”。

【解析】本题考查论证推理——支持。

论点：汤圆真正的前身是宋代被称为“圆子”的小吃。

论据：无直接论据，这是一个基于历史和文化分析的推断。

A 选项只是说明了“蜜饵”与元宵节的关系不紧密，但并未直接支持“汤圆的前身是宋代的‘圆子’”这一观点。

B 选项描述了宋代“圆子”的制作方法和材料，虽然与汤圆相似，但并未直接证明“圆子”就是汤圆的前身。

C 选项直接提供了历史证据，表明在宋代元宵节已经有了水煮“圆子”的习俗，这与现代元宵节的汤圆习俗高度相似，从而加强了“汤圆的前身是宋代的‘圆子’”这一观点。

D 选项虽然说明了宋代“圆子”的多样性，但并未直接证明“圆子”与汤圆之间的继承关系。

E 选项只是说明了宋代文人对“圆子”的喜爱和关注，但并未直接支持“圆子”是汤圆前身的观点。

故选 C。

29.人生病时会出现发烧、疲倦、头疼、咳嗽、肌肉酸痛、食欲不振、精神萎靡等症状。有人认为，生病时出现这些症状是为了尽快清除病原体，让人恢复健康。比如，发烧是为了让人保持高体温以便杀死病原体。但是，也有研究人员发现，疲倦、头疼、心情抑郁和食欲不振等症状与清除病原体并没有直接的联系。他们据此推测，有些症状的出现不是为了提高个人的生存率，而是为了保护整个种群的利益。

以下哪项如果为真，最能支持上述研究人员的推测？【E】

A.病原体常常通过患者、医生、护士及患者家属扩散开来。

B.一些病人在还没有发烧的时候，也会出现头疼、乏力和食欲不振等症状。

C.出现疲倦、头疼和心情抑郁等症状是为了节约能量，便于人体继续保持高体温以杀死病原体。

D.17 世纪黑死病传到一个英国村庄的时候，已被感染的村民为了不让病原体扩散，主动自我隔离，从而保护了周围村庄的安全。

E.疲倦、心情抑郁等症状是为了让人减少社交，防止病原体人传人；咳嗽等症状是为了让同伴们知道自己生病了，最好离远些。

【解析】本题考查论证推理——支持。

论点：有些症状的出现不是为了提高个人的生存率，而是为了保护整个种群的利益。

论据：疲倦、头疼、心情抑郁和食欲不振等症状与清除病原体并没有直接的联系。

A 选项只是描述了病原体扩散的途径，但并未直接说明症状与保护种群利益的关系，因此加强力度有限。

B 选项只是说明了症状的出现与发烧无必然联系，但并未直接支持症状是为了保护种群利益的观点。

C 选项实际上是在解释症状对个人生存的有利作用，与论点相悖，因此是削弱论点的。

D 选项虽然涉及了防止病原体扩散的行为，但它是关于村民的主动行为，而非症状本身的自然作用，因此与论点的直接关联性不强。

E 选项直接解释了症状如何起到保护种群利益的作用，即疲倦、心情抑郁等症状减少社交接触，降低病原体传播风险；咳嗽则是一种警示信号，提醒他人保持距离。这完全符合研究人员的推测，即有些症状的出现是为了保护整个种群的利益。

故选 E。

30.鹅，通体洁白，脖颈纤细流畅，常引颈高歌，缓步行走。秦汉时期，鹅已成为“庆祭丧婚，节岁礼馈”的必设之物，虽然也偶上餐桌，但其身价昂贵，只有贵族才可享用。东晋时期大书法家王羲之养鹅、爱鹅之雅事传于后世。一般认为，他养鹅、爱鹅，是为了观察鹅行走的步态而体悟书法之道、君子之风。但也有专家认为，王羲之养鹅、爱鹅，其实也看重鹅的药用价值。以下哪项如果为真，最能支持上述专家的观点？【D】

A.《隋书》说鹅肉“肥腻而滑，味美可口”，到了宋朝，鹅开始成为舌尖上的美味，鹅类菜品琳琅满目。

B.在道教流行的魏晋时期，鹅常被看作体内怀有仙气的禽鸟，融仙风与道骨于一体，食之益处良多，王羲之可能对此亦有同感。

C.南朝医家陶弘景发现，鹅血能缓解药石引发的症状；而唐朝孟诜《食疗本草》还认为，鹅肉、鹅血均有解毒功效，对服食丹药的人大有裨益。

D.王羲之为天师道世家出身，曾与道士许迈共同修道服食丹药，常不远千里采买药石，其间发现鹅血、鹅肉能缓解服用药石引发的燥热症状。

E.魏晋名士崇尚自然，喜好养生，加之当时道教和炼丹术习染，社会名士中服食药石之风盛行，而内服药石达到一定剂量即可使人中毒乃至死亡。

【解析】本题考查论证推理——支持。

论点：王羲之养鹅、爱鹅，其实也看重鹅的药用价值。

论据：无直接论据，这是一个基于历史和文化背景的推断。

A 选项，主要描述了鹅肉的美味和鹅类菜品的发展，与王羲之看重鹅的药用价值无直接关联，因此加强力度有限。

B 选项，虽然提到了鹅在道教中的特殊地位和其可能的益处，但并未直接说明王羲之看重鹅的药用价值，因此加强力度不强。

C 选项，虽然提到了鹅血和鹅肉的药用价值，但时间节点在王羲之后，且并未直接关联到王羲之本人，因此加强力度有限。

D 选项，直接关联到王羲之本人，且明确说明了王羲之在修道服食丹药的过程中发现了鹅血、鹅肉的药用价值，这完全符合专家的观点，即王羲之养鹅、爱鹅也看重鹅的药用价值。
E 选项，虽然描述了魏晋时期的社会背景，但并未直接说明王羲之看重鹅的药用价值，因此加强力度有限。
故选 D。

31.近日，火车无座票和有座票价格相同的话题再次引起广泛关注。有人在暑期买不到有座票，持无座票上车后又找不到座位，于是在“站得实在辛苦”之余，觉得“有无同价”有失公平。他们认为，既然一个有座位、另一个无座位，两者享受的服务不一样，价格怎么可以一样呢？对此，有专家却认为，如果铁路公司根据市场需求将有、无座位的票价拉开差距，就可能对低收入者产生不利影响。
以下哪项如果为真，最能支持上述专家的观点？【E】
A.现在的无座票只是表明没有事先预留座位，无座票乘客上车后仍可能找到座位，如果实行无座票打折政策，有座票乘客会觉得不公平。
B.如果无座票打折，就会激励一些人去购买无座票，而买了无座票的人上车后看到空座位一般总会去坐，这种“蹭座”行为会加大铁路公司的监管成本。
C.即使“有无同价”，与较晚购到无座票相比，提早买到有座票仍需要在时间和精力等方面付出更多的代价，这意味着有座票的真实价格其实是高于无座票的。
D.目前，铁路公司以先到先得的原则先售完有座票，再出售无座票，低收入者只要早些去抢票，还是可以买到有座票的。
E.如果铁路公司执行“谁花钱多谁就有座位使用权”的原则，完全按市场供需来决定票价，那么在出行高峰期，低收入者可能完全没有机会得到座位。
【解析】本题考查论证推理——支持。
论点：如果铁路公司根据市场需求将有、无座位的票价拉开差距，就可能对低收入者产生不利影响。
论据：无直接论据，这是一个基于市场和经济原理的推断。
A 选项，主要讨论了无座票乘客可能找到座位以及有座票乘客的感受，与低收入者是否受影响无直接关联，因此加强力度有限。
B 选项，讨论了无座票打折可能带来的“蹭座”行为和监管成本问题，但并未直接说明这对低收入者有何不利影响，因此加强力度不强。
C 选项，讨论了有座票和无座票在时间和精力上的成本差异，但并未直接关联到低收入者是否因票价差异而受不利影响，因此加强力度有限。
D 选项，说明了当前售票机制和低收入者购票的可能性，但并未直接说明票价差异对低收入者的不利影响，反而暗示低收入者有机会通过抢票获得有座票，因此加强力度不强。

E 选项，直接关联到专家的论点，说明了如果根据市场需求拉开票价差距，低收入者在出行高峰期可能因经济能力有限而无法获得座位，这完全符合专家的观点，即票价差异可能对低收入者产生不利影响。

故选 E。

32.苏洵，字明允，是北宋文人苏轼的父亲，自南宋以来人们常以老泉称苏洵。但是，宋以后又有人发现，苏轼虽号东坡居士，但晚年也自号“老泉山人”。苏东坡有诗云“宝公骨冷唤不闻，却有老泉来唤人。”此处，苏轼自称为“老泉”。与苏轼幼子苏过交往甚密的叶梦得在其《石林燕语》中证实，苏轼“晚又号老泉山人，以眉山先茔有老翁泉，故云”。由此，有专家认为，南宋以来的人们将苏洵称作老泉纯属误传。

以下哪项如果为真，最能支持上述专家的观点？【C】

A.明人黄灿、黄炜在《重编嘉祐集纪事》中说，他们亲眼见到有人向他们展示的苏轼《阳羡帖》上有“东坡居士、老泉山人”之图记。

B.宋人梅尧臣曾作《题老人泉寄苏明允》诗云：“泉上有老人，隐见不可常。苏子居其间，饮水乐未央。”这很容易让人以为苏老泉即苏洵。

C.宋时避讳规矩严格，苏轼的祖父名苏序，苏轼在作诗文集序时均将“序”改称“叙”，从不敢违反避讳的规矩。

D.宋光宗时郎晔《经进东坡文集事略》称苏轼为“老泉仲子也”：《三字经》的作者王应麟也说“苏老泉，二十七，始发愤”，其中的“苏老泉”即苏洵。

E.西方人取名，经常用其祖父、外祖父或其他上辈的名字，以此表达纪念、尊敬、继承或荣耀之意。

【解析】本题考查论证推理——支持。

论点：南宋以来的人们将苏洵称作老泉纯属误传。

论据：苏轼晚年也自号“老泉山人”，且这一称号与其先茔的老翁泉有关。

A 选项，只是证实了苏轼确实使用过“老泉山人”这一称号，但并未直接说明南宋以来人们将苏洵称作老泉是误传，因此加强力度有限。

B 选项，实际上更多的是在说明“苏老泉”这一称号可能与苏洵有关，而并非直接支持专家的观点，即这一称号是误传。

C 选项，直接关联到专家的观点。如果苏轼真的非常注重避讳，那么他不太可能故意使用与自己父亲（苏洵，字老泉）相同的称号（老泉山人），因为这可能被视为对父亲的不敬。这强烈暗示了“老泉”这一称号原本并非指苏洵，而是苏轼自己的称号，从而支持了专家的观点，即南宋以来人们将苏洵称作老泉是误传。

D 选项，实际上是在说明“苏老泉”这一称号在后世被广泛认为是苏洵的，但并未直接支持专家的观点，即这一称号是误传。

E 选项，与题目中的中国文化和历史背景无直接关联，因此无法加强专家的观点。

故选 C。

33.加强考勤管理，某公司制订了相关条例。其中两条为：

（1）对连续 3 天以上未按时打卡且年终绩效排名在倒数 10%之内的员工，扣发年终奖；

（2）对出现多次未按时打卡但年终绩效排名在前 10%之内的员工，不扣发年终奖。

若该公司根据条例决定不扣发员工王某的年终奖，则以下哪项最能解释该公司决定的合理性？

【E】

A.王某年终绩效排名在前 10%之内。

B.王某没有连续 3 天以上未按时打卡。

C.王某虽多次未按时打卡但年终绩效排名在倒数 10%之外。

D.王某若年终绩效排名不在前 10%之内，则他不曾多次未按时打卡。

E.王某没有连续 3 天以上未按时打卡或者其年终绩效排名不在倒数 10%之内。

【解析】本题考查综合推理。

题干信息：①连续 3 天以上未按时打卡∧年终绩效排名在倒数 10%之内→扣发。

②出现多次未按时打卡∧年终绩效排名在前 10%之内→不扣发。

A 选项，只考虑了年终绩效排名，没有考虑打卡情况，不能全面解释公司不扣发年终奖的决定。

B 选项，只考虑了打卡情况，没有考虑年终绩效排名，同样不能全面解释公司不扣发年终奖的决定。

C 选项，虽然同时考虑了打卡情况和年终绩效排名，但它只涵盖了一种特定情况，即多次未按时打卡但年终绩效不在倒数 10%之内，没有涵盖年终绩效在前 10%之内的情况，因此也不能完全解释公司不扣发年终奖的决定。

D 选项，表述的是一个条件关系，而且它只描述了年终绩效不在前 10%之内的情况，对于年终绩效在前 10%之内的情况没有涉及，因此也不能解释公司不扣发年终奖的决定。

E 选项，用逻辑联结词“或者”将两个条件连接起来，表示只要满足其中一个条件，公司就不会扣发年终奖。这完全符合题目中的两条考勤管理条例，因为扣发年终奖需要同时满足“连续 3 天以上未按时打卡”和“年终绩效排名在倒数 10%之内”两个条件，所以只要其中一个条件不满足，公司就不会扣发年终奖。这个选项全面且准确地解释了公司不扣发王某年终奖的合理性。

故选 E。

34.罗马帝国曾是世界上最强大的帝国之一，但西罗马早在公元 5 世纪就土崩瓦解，东罗马也在 15 世纪走向终结。如此庞大的帝国为何走向末路？有网友研究发现，罗马帝国的水渠管道有相当一部分是用铅铸造的。近年来又有考古人员发现，古罗马人的遗骨中铅含量异常，有的到了足以引发健康问题的程度。由此，这些网友认为，水在流经铅管道的时候被铅污染了，罗马居民天天饮用铅污染水，发生了铅中毒现象，从而加速了帝国的衰亡。

以下哪项如果为真，最能质疑上述网友的观点？【E】

A.罗马人广泛使用银作为货币和装饰，而用来冶炼出银的银矿石主体是铅，这使得罗马帝国每年产铅量巨大。

B.铅金属熔点低又易铸造成型，拿来做水管极为合适，也可以用来制作生活中各种方便实用的合金工具。

C.罗马人习惯用铅制容器加热葡萄汁，而实验发现在铅容器中熬制葡萄汁减少至三分之一时，每升葡萄汁中会含有高达一克的铅。

D.罗马帝国早期很少有铅中毒的记载，直到公元 7 世纪，才有东罗马帝国的个别医师描述过慢性铅中毒症状，但对中毒原因莫衷一是。

E.罗马帝国的铅水管里一般会结有一层很厚的水垢，这些水垢阻挡了水和铅的接触，使得水中的含铅量极少，并不足以威胁人的健康。

【解析】本题考查论证推理——削弱。

论点：罗马帝国衰亡的原因是居民长期饮用铅污染的水导致的铅中毒。

论据：①罗马帝国的水渠管道有相当一部分是用铅铸造的；②古罗马人的遗骨中铅含量异常，有的足以引发健康问题。

A 选项，只是说明了罗马帝国铅产量大的原因，但并未直接关联到铅污染水源和铅中毒的问题，因此无法削弱网友的观点。

B 选项，解释了为什么铅被用作水管材料，但并未对铅是否污染水源或导致铅中毒提供直接信息，因此也无法削弱网友的观点。

C 选项，实际上加强了网友的观点，提供了另一种可能的铅来源，即除了水管外，还有其他途径可能导致铅中毒。

D 选项，提供了关于铅中毒历史记载的信息，但并未直接反驳网友关于铅污染水源导致铅中毒和帝国衰亡的观点。

E 选项，直接挑战了网友的论点。如果铅水管内部结有水垢，且这些水垢能有效阻挡水和铅的接触，那么水中的铅含量就会很低，从而无法导致居民铅中毒。这直接削弱了网友关于铅污染水源导致铅中毒和帝国衰亡的论点。

故选 E。

35.作为一款生成式人工智能软件，RZN-III利用已有网络文献，可为提问者提供经过搜索整理后相对合理的答案，给大学生学习带来便利。目前，有些大学禁止学生在做论文和课程作业时使用 RZN-III，否则将被视为学术不端；但也有一些大学不阻拦甚至鼓励学生使用它。对此有专家认为，RZN-III虽只提供既有知识，但也能助力科技创新，大学禁用 RZN-III其实不妥。

以下哪项如果为真，最能支持上述专家的观点？【A】

A．将 RZN-III作为人的“外脑”，对人类的已有智慧进行向量化的储存和提取，会加速和简化人们的学习过程，这将为科技创新腾出时间和精力。

B. 传承文明需要一代代人组成人才梯队，不断学习、应用和创新。如果人类在 RZN-III总结的前人智慧上躺平，其文明进程就会出现停滞甚至倒退。

C. 目前人类知识呈现大爆炸状态，很多人即便穷其一生都学不完某领域的基础知识，根本没有时间为该领域做些添砖加瓦的创新工作。

D. 大学不仅要传授知识与技艺，更要培养学生独立思考、科学思维的能力。如果让 RZN-III代替学生思考，就会弱化他们的创新思维和进取心。

E. 作为一种现代社会的实用工具，RZN-III应进入大学课堂，成为重要的大学教学内容，否则学生毕业后很难适应社会，更不用说参与激烈的人才竞争。

【解析】本题考查论证推理——支持。

论点：大学禁用 RZN-Ⅲ其实不妥。

论据：RZN-Ⅲ虽只提供既有知识，但也能助力科技创新。

A 选项，直接支持了专家的观点，说明 RZN-Ⅲ能够助力科技创新的方式——通过加速和简化学习过程，为科技创新腾出更多时间和精力。

B 选项，实际上是在警示 RZN-Ⅲ可能带来的负面影响，即人们可能过于依赖它而不再主动学习和创新，这与专家的观点相悖。

C 选项，虽然描述了当前知识爆炸的现状，但并未直接说明 RZN-Ⅲ如何助力科技创新，因此与专家的观点关联不大。

D 选项，同样是在指出 RZN-Ⅲ的潜在负面影响，即可能削弱学生的独立思考和创新能力，这与专家的观点相反。

E 选项，虽然强调了 RZN-Ⅲ作为实用工具的重要性，但并未直接说明它如何助力科技创新，因此与专家的论点不完全契合。

故选 A。

36. 牛磺酸是半胱氨酸的天然代谢产物，人体内和大多数动物性食物中都能找到这种成分。有研究发现，人体内的牛磺酸含量会随着年龄的增加而不断下降，一个 60 岁老人体内的牛磺酸水平只有 5 岁儿童的三分之一。一项针对万名 60 岁以上老人的体检统计显示，他们体内的牛磺酸水平越高，健康状况越好。有专家据此认为，人体内的牛磺酸水平与人体的健康状况呈正相关关系。

以下哪项如果为真，最能支持上述专家的观点？【B】

A. 牛磺酸可能具备抗衰老功效，但这个推测目前还没有获得严格的实验证据支持。

B. 服用牛磺酸可缓解骨质疏松症这种典型的中老年疾病，甚至还能促进骨骼生长。

C. 实验中服用牛磺酸的老鼠寿命延长了 3～4 个月，这相当于人类寿命的 7～8 年。

D. 不管从事何种体育运动，只要进行经常性锻炼都会提升体内的牛磺酸水平。

E. 有些猴子服用牛磺酸后，精力更加充沛，肌肉的耐力和爆发力都有所增长。

【解析】本题考查论证推理——支持。

论点：人体内的牛磺酸水平与人体的健康状况呈正相关关系。

论据：①人体内的牛磺酸含量会随着年龄的增加而不断下降；②一项针对万名 60 岁以上老人的体检统计显示，他们体内的牛磺酸水平越高，健康状况越好。

A 选项，虽然提到了牛磺酸的潜在功效，但因为是“可能”且“没有获得严格的实验证据支持”，所以并不能有效地加强专家的观点。

B 选项，直接提供了牛磺酸对健康有益的具体证据，即牛磺酸能够缓解骨质疏松症并促进骨骼生长，这直接支持了牛磺酸水平与人体健康状况呈正相关关系的论点。

C 选项，虽然显示了牛磺酸对老鼠寿命的延长作用，但因为是动物实验，其结论不一定能直接应用于人类，因此加强效果有限。

D 选项，说明了锻炼能提升牛磺酸水平，但并未直接说明牛磺酸水平提升与健康状况改善之间的因果关系，因此加强效果较弱。

E 选项，虽然显示了牛磺酸对猴子某些生理指标的改善作用，但同样因为是动物实验，其结论的普遍性有待商榷，加强效果有限。

故选 B。

37.生态文明建设覆盖面广、综合性强，涉及价值理念、目标导向、生产和消费方式等多个方面，是一项复杂的系统性工程。过去一段时间，由于生态环境数据信息在区域、部门、单位之间共享不够，导致生态环境治理在一定程度上存在碎片化现象，一些地方生态环境治理中“反复治理、治理反复”的问题较为突出。由此可见，建成生态环境数据“一张网”、建设数字生态文明是非常必要的。

以下哪项如果真，最能支持上述论证？【B】

A.数字化和绿色化相互融合、相互促进，已成为全球发展的重要主题。

B.建设数字生态文明能够有效提升生态文明建设的共享性、系统性和协同性。

C.建成生态环境数据“一张网”可以科学高效地解决生态环境问题，拓展生态环境治理的方法和路径。

D.建设绿色智慧的数字生态文明，可为促进经济社会全面绿色转型、建设人与自然和谐共生的现代化提供强劲动能。

E.数字赋能生态文明建设可以不断健全生态环境领域数字化的标准规范体系，为建设全球生态文明贡献中国标准。

【解析】本题考查论证推理——支持。

论点：建成生态环境数据“一张网”、建设数字生态文明是非常必要的。

论据：生态文明建设复杂且系统性强，涉及多个方面；过去由于数据共享不够，导致治理碎片化，“反复治理、治理反复”问题突出。

A 选项，虽然提到了数字化和绿色化的关系，但并未直接说明数字生态文明对解决生态环境治理碎片化问题的作用，因此加强效果有限。

B 选项，直接针对论据中提到的生态环境治理碎片化问题，提出了数字生态文明能够提升共享性、系统性和协同性，从而有效解决治理碎片化问题，直接加强了论点。

C 选项，虽然说明了“一张网”的好处，但并未直接关联到数字生态文明对解决碎片化问题的作用，加强效果不如 B 项直接。

D 选项，主要强调了数字生态文明对经济社会转型的推动作用，与解决生态环境治理碎片化问题的直接关联性不强。

E 选项，主要强调了数字生态文明在标准化方面的贡献，与解决生态环境治理碎片化问题的直接关联性也不强。

故选 B。

38.名山公园最美的风景往往在山顶才可寻觅。为了让游客既能看到美景又能轻松登山，很多公园在大山上安装了索道或电梯，实现了有些游客追求的“无痛登山”梦想。对此，许多登山爱好者却认为，“无痛登山”让登山失去了灵魂，这样的登山其实已经没有乐趣可言。

以下哪项如果为真，最能质疑上述登山爱好者的观点？【C】

A.很多名山公园的登山步道长达数千米，海拔高差也达数百米乃至千米以上，对那些运动能力欠佳但又想“一览众山小”的游客实在不太友好。

B.一般来说，现在许多装有登山索道或电梯的名山公园，还留有传统登山步道供登山爱好者使用，游客可以量力而行，追寻各自的便利和快乐。

C.无须风吹雨打、烈日炙烤，无须劳累辛苦、久耗时间，很多游客走出高山索道或电梯，就能欣赏眼前一片广阔风景，打卡拍照后潇洒离去，好不自在。

D.在自然的山水中安装索道或电梯，不仅因耗费巨大而增加游客费用，而且会造成对绿水青山的破坏，不符合人与自然和谐共生的理念。

E.登山追求的是探索自然的乐趣和登险克难的快感，“无痛登山”用身心的闲置取代身心的磨砺，让这种乐趣和快感荡然无存。

【解析】本题考查论证推理——削弱。

论点：“无痛登山”让登山失去了灵魂，这样的登山没有乐趣可言。

论据：名山公园安装了索道或电梯，实现了“无痛登山”。

A 选项，说明了传统登山的难度，但并未直接质疑登山爱好者的观点，即“无痛登山”是否失去乐趣。

B 选项，直接质疑了登山爱好者的观点。它指出，即使有名山公园安装了索道或电梯，仍然保留了传统登山步道，游客可以根据自己的喜好和能力选择登山方式。这意味着“无痛登山”并未剥夺登山爱好者的乐趣，而是提供了更多选择。

C 选项，描述了“无痛登山”的便利性和游客的自在感受，但并未直接质疑登山爱好者的观点，即这种登山方式是否失去乐趣。

D 选项，讨论了索道或电梯的负面影响，但并未直接关联到“无痛登山”是否失去乐趣的问题。

E 选项，实际上是在加强登山爱好者的观点，而非质疑它。
故选 C。

39～40 题基于以下题干：
全球气候正在变暖。权威科学报告显示，最近 50 年的全球气候变暖主要是人类燃烧化石燃料导致的。全球气候变暖已经给人类的生存和发展带来巨大危害。当前，人类的生产生活排放正在逼近多个气候临界点，一旦突破这些临界点，人类的未来将面临巨大风险。如何应对这样的气候风险？以下几位专家相继提出不同看法：
甲：各国应当尽快停止依赖化石燃料，转向开发风能、水能、太阳能等清洁能源。
乙：有些发展中国家由于经济、技术等条件的限制，目前还无法很快实现能源转型。
丙：当前气候风险巨大，不能尽快实现能源转型的国家就是在破坏人类的共同家园。
丁：全球气候变暖主要是发达国家 200 多年的工业排放导致的，他们更应对此负责。
戊：若要求发展中国家尽快实现能源转型，发达国家就必须向他们提供资金和技术。
己：所谓气候风险目前还存在不确定性，在此情况下花费巨大代价去应对并不明智。
39.根据以上信息，可以得出以下哪项？【A】
A.乙反驳了甲。
B.丙反驳了甲。
C.丁反驳了甲。
D.己反驳了甲。
E.戊反驳了甲。
【解析】本题考查直言判断的关系。
题干各专家观点：
甲：主张各国应尽快转向清洁能源。
乙：指出发展中国家由于经济、技术等条件限制，无法很快实现能源转型。
丙：批评不能尽快实现能源转型的国家在破坏共同家园。
丁：认为全球气候变暖主要是发达国家的责任。
戊：提出发达国家应提供资金和技术帮助发展中国家实现能源转型。
己：认为气候风险存在不确定性，大代价应对不明智。
A 选项（乙反驳了甲）：乙的观点是“有些发展中国家由于经济、技术等条件的限制，目前还无法很快实现能源转型”。这实际上是对甲提出的“各国应当尽快停止依赖化石燃料，转向开发清洁能源”观点的一种实际困难的反驳，因为并非所有国家都有能力立即实现能源转型。
B 选项（丙反驳了甲）：丙的观点是“当前气候风险巨大，不能尽快实现能源转型的国家就是在破坏人类的共同家园”。这更像是对那些未能尽快实现能源转型的国家的批评，而非对甲观点的反驳。
C 选项（丁反驳了甲）：丁的观点是“全球气候变暖主要是发达国家 200 多年的工业排放导致

的，他们更应对此负责”。这主要是指出气候变暖的责任主体，并未直接反驳甲的观点。

D 选项（己反驳了甲）：己的观点是“所谓气候风险目前还存在不确定性，在此情况下花费巨大代价去应对并不明智”。这是对是否应花费大代价应对气候风险的质疑，与甲的观点并不直接冲突。

E 选项（戊反驳了甲）：戊的观点是“若要求发展中国家尽快实现能源转型，发达国家就必须向他们提供资金和技术”。这是提出一个实现能源转型的条件，而非对甲观点的反驳。

故选 A。

40.对于上述专家的观点，可以得出以下哪项？【C】

A.乙和丁支持丙。

B.丙和戊支持甲。

C.乙和丁支持戊。

D.乙和丙支持已。

E.戊和己支持乙。

【解析】本题考查直言判断的关系。

题干各专家观点：

甲：主张各国应尽快转向清洁能源。

乙：指出发展中国家由于经济、技术等条件限制，无法很快实现能源转型。

丙：批评不能尽快实现能源转型的国家在破坏共同家园。

丁：认为全球气候变暖主要是发达国家的责任。

戊：提出发达国家应提供资金和技术帮助发展中国家实现能源转型。

己：认为气候风险存在不确定性，大代价应对不明智。

A 选项（乙和丁支持丙）：乙只是指出了发展中国家面临的困难，并未直接支持丙的批评；丁则是将气候变暖的责任归咎于发达国家，与丙的观点并不一致。因此，A 选项不成立。

B 选项（丙和戊支持甲）：丙是批评未能尽快转型的国家，而非支持甲的转型主张；戊虽然提到了转型的必要性，但强调的是发达国家的责任，并未直接支持甲。因此，B 选项不成立。

C 选项（乙和丁支持戊）：乙指出发展中国家无法很快实现能源转型，这间接支持了戊提出的发达国家应提供帮助的观点；丁强调发达国家的责任，也与戊要求发达国家承担更多责任的观点相吻合。因此，C 选项成立。

D 选项（乙和丙支持己）：乙和丙的观点与己关于气候风险不确定性的观点并无直接关联，因此 D 选项不成立。

E 选项（戊和己支持乙）：戊关注的是发达国家对发展中国家的帮助，己则是对整个气候风险应对的质疑，两者并未直接支持乙的观点，因此 E 选项不成立。

故选 C。

41.已知“▦▨▩▤▣”“▩☷▤▣▥”和“☷▤▣▦▥”是三组图形符号，其中有两组分别表示“春花开满园”和“满山梅花开”。

根据以上信息，可知“▤▩☷▨▥”中两个相邻图形符号表示的汉字有【A】

A.春山。
B.梅园。
C.梅山。
D.花园。
E.山花。

【解析】本题考查图形符号与汉字对应。

题目中的关键信息：

三组图形符号：①“▦▨▩▤▣”，②“▩☷▤▣▥”，③“☷▤▣▦▥”。

这两组符号分别表示“春花开满园”和“满山梅花开”。即每个字代表一个符号，观察两句话可知，都出现“花”“开”“满”。“花”分别出现在两句话的第二和第四的位置，“开”分别出现在两句话的第三和第五的位置，“满”分别出现在两句话的第四和第一的位置。即要求两组图形中：一组的第二和另一组的第四相同、一组的第三和另一组的第五相同、一组的第四和另一组的第一相同。再观察图形可知：①“▦▨▩▤▣”对应“满山梅花开”；③“☷▤▣▦▥”对应“春花开满园”。

由此可知：“▤▩☷▨▥”所对应的文字为“花梅春山园”。

题目要求找“▤▩☷▨▥”两个相邻图形符号表示的汉字，一一列出：花梅、梅春、春山、山园。观察选项，只有 A 项符合。

故选 A。

42.某小区院子里栽种了许多树，既有常绿树，也有落叶树。其中，针叶树都是常绿树，阔叶树都不是常绿树；针叶树大都属于观赏树种；果树大部分不是常绿树，少部分是常绿树。

根据以上信息，关于小区院子里栽种的树，可以得出以下哪项？【D】

A.针叶树有些是果树。
B.阔叶树有些不是果树。
C.有些针叶树不是果树。
D.有些果树不是阔叶树。
E.有些阔叶树是观赏树种。

【解析】本题考查直言判断的集合推理。

题干信息：
①所有的针叶树都是常绿树。
②所有的阔叶树都不是常绿树。
③有些针叶树是观赏树种（大都属于=有些…是…）。
④有些果树不是常绿树（大部分不是=有些…不是…）。
⑤有些果树是常绿树（少部分是=有些…是…）。
由③换位可得：有些观赏树种是针叶树，再串联①可得：⑥有些观赏树种是常绿树。
由①逆否可得：所有不是常绿树的树都不是针叶树，再串联④可得：有些果树不是针叶树。
由②逆否可得：⑦所有常绿树都不是阔叶树，再串联⑤可得：有些果树不是阔叶树。
结合⑥⑦可得：有些观赏树种不是阔叶树。
观察可知，只有 D 项符合上述推理结果。
故选 D。

43.某地群山连绵，森林覆盖率高达 75%，具有临海、高山草甸、天坑、峡谷等四种类型的自然景观，吸引着世界各地游客。一位细心的游客发现，该地四种自然景观共 16 处，每种类型的自然景观数量各不相同，另外，他还发现：
（1）临海和峡谷的总数共是 6 处；
（2）临海和天坑的总数共是 7 处；
（3）4 种类型自然景观中有一种类型的数量是 3 处。
根据以上信息，可以得出以下哪项？【B】
A.该地有 2 处临海。
B.该地有 3 处天坑。
C.该地有 4 处峡谷。
D.该地有 5 处高山草甸。
E.该地有 8 处高山草甸。
【解析】本题考查分析推理——数据分析。
根据（1）（2）得知：临海+峡谷+天坑<13（题干中临海是重复计算），即高山草甸>3。结合（3）可知，数量是 3 的自然景观不是高山草甸，即数量是 3 的自然景观只能是另外三个其中之一。由于每种类型的自然景观数量各不相同，结合（1）可知临海和峡谷的数量不为 3，即只能是天坑的数量为 3。
故选 B。

44.某大学新校区建成后，甲乙丙丁 4 位校领导对新校区建设①②③④⑤等 5 项工作进行了检查，已知他们每个人至少检查了其中 1 项工作，每项工作均被检查过一遍，且不会被重复检查，关于他们 4 人与其检查工作的对应情况有如下 3 中描述：

	①	②	③	④	⑤	对应情况描述正确的数量
描述一	乙	甲	丁	丁	丙	2
描述二	丙	甲	乙	甲	丁	2
描述三	甲	丙	丁	乙	甲	3

根据上述信息，可以得出哪项一定为真？【B】

A. 甲检查了工作④。

B. 甲检查了工作⑤。

C. 乙检查了工作③。

D. 丙检查了工作②。

E. 丁检查了工作④。

【解析】本题考查分析推理。

题干信息：5 项工作由 4 位领导检查，每人至少检查 1 项工作（有 1 人会检查 2 项工作），每项工作不会被重复检查。

五项工作本来只有 5 个匹配关系，但三种描述分别对 2、2、3 个，加一块是 7 次匹配关系。也就是说，有两次是重复，即有两项工作都分别有 2 个描述是正确的，观察表格可知，②和③这两项工作均有两次甲两次丁，故甲检查工作②，丁检查工作③为正确。

此时，描述一已有 2 个正确描述，则其他三个均为错误描述；且描述二的工作③对应错误，描述三的工作②对应错误。标记表格如下：

	①	②	③	④	⑤	对应情况描述正确的数量
描述一	乙（×）	甲（√）	丁（√）	丁（×）	丙（×）	2
描述二	丙	甲（√）	乙（×）	甲	丁	2
描述三	甲	丙（×）	丁（√）	乙	甲	3

由于每个人都至少检查 1 项工作，此时观察可知，描述二和描述三中均仅有一个乙和丙，一定是正确的，即丙检查工作①、乙检查工作④；此时描述二也有 2 个正确描述，即剩余的两个是错误的，则工作⑤只能由甲检查。

	①	②	③	④	⑤	对应情况描述正确的数量
描述一	乙（×）	甲（√）	丁（√）	丁（×）	丙（×）	2
描述二	丙（√）	甲（√）	乙（×）	甲（×）	丁（×）	2
描述三	甲（×）	丙（×）	丁（√）	乙（√）	甲（√）	3

故选 B。

45. 近期，某老年大学开设书法，手工，台球，古筝，声乐，绘画 6 门秋季课程，陆赵王李 4 位老人均报名参加了其中 2 门课程的学习。已知：

（1）上述每门课程均至少有其中的 1 人报名。

（2）李所报课程仅与其他 3 人中的 1 人所报课程完全不同。

（3）若李王 2 人至多有 1 人报书法课程，则李和陆均报了声乐和绘画课程。

根据以上信息，可以得出哪项？【E】

A.赵报古筝。

B.李报声乐。

C.陆报绘画。

D.王报台球。

E.李报书法。

【解析】本题考查包含假言、选言和联言判断的分析推理。

题干信息：6 门课程（书法，手工，台球，古筝，声乐，绘画）和 4 位老人（陆赵王李）。

①每位老人都报名了 2 门课程。

②每门课程都至少有 1 人报名。

③李所报课程仅与其他 3 人中的 1 人所报课程完全不同。

④若李王 2 人至多有 1 人报书法课程，则李和陆均报了声乐和绘画课程。

由条件④，如果李或王没有报书法，那么李和陆都会报声乐和绘画。但考虑到每位老人只能报 2 门课程，且每门课程都至少有 1 人报名，这种情况会导致至少有一门课程没有人报，与条件②矛盾。因此，我们可以推断出李和王都报了书法课程。

故选 E。

46.某单位今年招聘了甲、乙、丙、丁、戊、己 6 名应届毕业生，其中博士 1 人，硕士 2 人，学士 3 人；2 名男性，4 名女性。已知：

（1）乙、丁 2 人性别相同，丙、己 2 人性别不同；

（2）甲、己 2 人学位相同，乙、丙、戊 3 人学位各不相同。

根据以上信息，可以得出以下哪项？【A】

A.乙、丁中至少有 1 人是女硕士。

B.乙、丙中至少有 1 人是女硕士。

C.丁、戊中至少有 1 人是男硕士。

D.丙、戊中有 1 人是男博士。

E.丙、戊中有 1 人是女博士。

【解析】本题考查分析推理。

题干信息：6 名应届毕业生，博士 1 人，硕士 2 人，学士 3 人；2 名男性，4 名女性。

①乙、丁 2 人性别相同，丙、己 2 人性别不同。

②甲、己 2 人学位相同，乙、丙、戊 3 人学位各不相同。

根据①可知：乙、丁是女性。因为丙、己 2 人性别不同，必是一男一女，而男性只有 2 人，如

果乙、丁是男性，则不合题意。

根据②可知：甲、己是学士。因为乙、丙、戊 3 人学位各不相同，三种学位各占一个，而硕士只有 2 人，若甲、己是硕士，则不合题意。此时，可推知丁是硕士。

综上所述，可知丁是女硕士。由于选项并非事实结论，所以需进行分析：

A 选项，乙、丁中至少有 1 人是女硕士。结合题干结论“丁是女硕士”，可知描述正确。

B 选项，乙、丙中至少有 1 人是女硕士。题干结论只知“乙是女性”，无法判断该描述正误。

C 选项，丁、戊中至少有 1 人是男硕士。题干结论只知“丁是女硕士”，戊的学位性别都未知，无法判断该描述正误。

D 选项，丙、戊中有 1 人是男博士。丙、戊的学位和性别都未知，无法判断该描述正误。

E 选项，与 D 项同理。

故选 A。

47. 某部甲、乙、丙、丁、戊、己、庚、辛 8 名官兵以一路纵方队进行（先后顺序未必如此）。已知：甲之后有 3 名士兵；丙是士兵，其后有 2 名士兵；丁之前有 2 名军官，其后有 2 名士兵；己之后无士兵。

根据以上信息，可以得出以下哪项？【B】

A. 乙是军官。

B. 丁是军官。

C. 戊是士兵。

D. 己是军官。

E. 8 人中有 5 名军官、3 名士兵。

【解析】本题考查分析推理。

已知甲后面有三个士兵，丙是士兵，后面有两个士兵（注意：题干已知条件并未说是连续的，而是整体情况）。那么丙一定在甲后面，如果丙在前面，丙后面也绝对有三个士兵。丁后面有两个士兵，丁一定在丙后面，如果丁在丙前面，丁就有三个士兵了（包含丙）。且丁不可能是士兵，因为如果丁是士兵，它后面还有两个士兵，而丙在丁之前，丙后面就有三个士兵了，不合题意，故丁只能是军官。

故选 B。

48. 某大学开设 6 门中国古代经典选读课程，分别讲授《论语》《周易》《中庸》《墨经》《诗经》《尚书》之一，由周、吴、王 3 位老师各讲授其中 2 门且所讲完全不同。已知：

（1）吴老师、讲授《诗经》的和讲授《论语》的 3 人均是文学院的；

（2）周老师、讲授《墨经》的和讲授《周易》的 3 人均住在教师公寓。

根据以上信息，以下哪项是不可能的？【B】

A. 讲授《论语》《周易》的是同一位老师。

B.讲授《中庸》《尚书》的是同一位老师。

C.讲授《墨经》《诗经》的是同一位老师。

D.讲授《中庸》《墨经》的是同一位老师。

E.讲授《诗经》《尚书》的是同一位老师。

【解析】本题考查分析推理。

题干信息：6门课程，由3位老师各讲授其中2门且所讲完全不同。

①吴老师、讲授《诗经》的和讲授《论语》的3人均是文学院的。

②周老师、讲授《墨经》的和讲授《周易》的3人均住在教师公寓。

根据①可知，吴老师不讲授《诗经》和《论语》，且讲授《诗经》和讲授《论语》的不是同一个老师。因为条件说这3人都是文学院的老师。

根据②可知，周老师不讲授《墨经》和《周易》，且讲授《墨经》和《周易》的不是同一位老师。因为条件说这3人都住教师公寓。

	《论语》	《周易》	《中庸》	《墨经》	《诗经》	《尚书》
周老师		×		×		
吴老师	×				×	
王老师						

由于没有结论且选项也无事实结论，需进行分析：

A选项，讲授《论语》《周易》的是同一位老师。观察表格可知：王老师可以讲授《论语》《周易》，且不与条件①、②冲突，所以这是可能的。

B选项，讲授《中庸》《尚书》的是同一位老师。观察表格可知：不论哪个老师讲这2门课，都会违背条件①、②，所以这是不可能的。因为若周老师讲授《中庸》《尚书》。则吴老师只能讲《周易》和《墨经》，但已知这两门不是同一位老师讲授，矛盾。其余2位老师代入同理。

C选项，讲授《墨经》《诗经》的是同一位老师。观察表格可知：王老师可以讲授《墨经》和《诗经》，且不与条件①、②冲突，所以这是可能的。

D选项，讲授《中庸》《墨经》的是同一位老师。观察表格可知：不论是吴老师还是王老师讲授这2门课，都可以不与条件①、②冲突，所以这是可能的。

E选项，讲授《诗经》《尚书》的是同一位老师。观察表格可知：不论是周老师还是王老师讲授这2门课，都可以不与条件①、②冲突，所以这是可能的。

故选B。

49.下图有一5*5的方格，它所含的每个小方格中均可填入“酸”“甜”“苦”“辣”“咸”五味名称之一，有部分方格已经填入，要求该方阵每行、每列以及两条对角线的5个小方格中均含有五味名称，不能重复也不能遗漏。

①				辣
				②

		苦		
				甜
酸				

根据上述要求，以下哪项是空格①②中依次应填入的五味名称？【D】

A.甜、酸。

B.甜、咸。

C.咸、酸。

D.甜、苦。

E.咸、苦。

【解析】本题考查分析推理。

题干信息：方阵每行、每列以及两条对角线的5个小方格中均含有五味名称，不能重复。

观察可知对角线上已知信息最多，且4行2列处已经可以排除4味，应填“咸”，2行4列处应填“甜”，此时一条对角线已完整。可以发现，5行5列处也可以排除4味，应填“咸”，①处根据行列对角线可以排除4味，应填入“甜”。此时3行5列也可以排除4味，应填入“酸”，则②处应填入“苦”。如下图：

甜				辣
			甜	苦
		苦		酸
	咸			甜
酸				咸

故选D。

50～51题基于以下题干：

在欣赏一幅古代山水画时，某人发现在一片山水屋舍之间，有主人、童子、访客和垂钓4种人物共6人点缀其中。3名访客正走在门外的小桥上高声呼喊，画中的主人正要打开院门迎客，童子正在院中煮茶，1名钓者正在远离人群的一条小溪旁安静垂钓。赏画人将这6人当作甲、乙、丙、丁、戊、己，并且设想：

（1）如果甲是主人，则乙和丙均是访客；

（2）如果丙是访客，则己在院外且甲是童子；

（3）如果丙和丁至多有一人是访客，则甲是主人且戊在院内。

50.根据以上信息，可以得出以下哪项？【A】

A.甲是童子。

B.乙是访客。

C.丙是主人。

D.戊是访客。

E.己是钓者。

【解析】本题考查包含假言、联言、选言判断的分析推理。

题干信息：图中 6 人分别是 3 名访客，1 位主人，1 名童子和 1 名垂钓者。主人和童子在院内，访客和垂钓者在院外。

①甲是主人→乙是访客∧丙是访客。

②丙是访客→己在院外∧甲是童子。

③丙不是访客∨丁不是访客→甲是主人∧戊在院内。

假设条件①成立："甲是主人"为真，则乙和丙都是访客。"丙是访客"代入②可得：己在院外且甲是童子，这与"甲是主人"矛盾，因此假设不能成立，即：④甲不是主人。

此时，④代入③根据"否后推否前"可得：丙和丁都是访客。"丙是访客"代入②可得：己在院外且甲是童子。

故选 A。

51.如果乙在院外，则可以得出以下哪项？【D】

A.丁是钓者。

B.乙是钓者。

C.乙是访客。

D.戊是主人。

E.已是访客。

【解析】本题考查包含假言、联言、选言判断的分析推理。

题干信息：图中 6 人分别是 3 名访客，1 位主人，1 名童子和 1 名垂钓者。主人和童子在院内，访客和垂钓者在院外。

①甲是主人→乙是访客∧丙是访客。

②丙是访客→己在院外∧甲是童子。

③丙不是访客∨丁不是访客→甲是主人∧戊在院内。

上题推理结论：甲是童子，丙和丁都是访客，己在院外。

新条件：④乙在院外。此时结合上题结论可以发现，已有 2 名访客和 2 名确定在院外的人，且甲又确定身份（童子），只剩下戊和主人身份，因此戊是主人。

故选 D。

52～53 题基于以下题干：

某次考试有 10 道选择题，小李、小王、小文 3 人均只答对其中 6 道题。已知：

（1）没有人连续答对 3 道题；

（2）小李 2、4、9 题答错了，小王第 1、5、8 题答错了，小文 3、6、9 题答错了。

52. 根据以上信息，以下哪项是可能的？【A】

A. 小李第 6 题答错了。

B. 小李第 10 题答错了。

C. 小王第 9 题答错了。

D. 小王第 10 题答错了。

E. 小王第 6 题答错了。

【解析】本题考查。

根据题目信息列表如下：

	1	2	3	4	5	6	7	8	9	10
小李		×		×					×	
小王	×				×			×		
小文			×			×			×	

已知每人都只答对 6 题，且当前均已错 3 题，即三人还各错了一题。由于没有人连续答对 3 道题，所以小李可能答错第 6 或第 7 道题；小王可能答错 2～4 题中的其中 1 题。观察选项可知，只有 A 选项出现在可能的结果中。

故选 A。

52～53 题基于以下题干：

某次考试有 10 道选择题，小李、小王、小文 3 人均只答对其中 6 道题。已知：

（1）没有人连续答对 3 道题；

（2）小李 2、4、9 题答错了，小王第 1、5、8 题答错了，小文 3、6、9 题答错了。

53. 若有一题 3 人均答对了，有一题 3 人均答错了，则以下哪项一定是错误的？【C】

A. 小李第 3 题答对了。

B. 小王第 2 题答对了。

C. 小王第 3 题答错了。

D. 小文第 2 题答错了。

E. 小文第 4 题答对了。

【解析】本题考查。

本题新条件：有一题 3 人均答对、有一题 3 人均答错。

根据上题推理补充表格如下：

	1	2	3	4	5	6	7	8	9	10
小李	√	×	√	×	√			√	×	√
小王	×				×	√	√	×	√	√
小文			×			×			×	

观察表格可知，1、3、5、6、8、9 都已经不符合本题新条件了，所以只需要考虑剩余的其他题目。第 2、4 题均已有人答错，第 7、10 题已经有人答对，如果要符合题意，则只能是第 2、

4 题中出现一题 3 人全错的情况。因此，小王不可能答错第 3 题。

故选 C。

54～55 题基于以下题干：

某学院尚余 9 个考场的监考任务供甲、乙、丙、丁、戊 5 位老师选择。已知，每场考试 2 小时，每位老师均需监考 2～3 个考场；有 2 个考场要求其中 2 人共同监考；其余 7 个考场要求单独监考，各需 1 名监考人员。

这 9 个考场的时间安排如下：

星期 时间	星期一	星期二	星期三	星期四	星期五
上午 9:00-11:00	已安排	1 个考场	1 个考场	已安排	1 个考场
下午 14:00-16:00	已安排	无监考	例会	2 个考场	已安排
晚上 18:30-20:30	1 个考场 （2 人监考）	1 个考场	1 个考场	1 个考场 （2 人监考）	已安排

对于监考安排，丙、丁没有任何要求，但其他 3 位老师有如下要求：

甲：我的监考需安排在晚上，但不要连续两个晚上都安排监考；

乙：若我的监考没有都安排在前三天，则有一场需安排我和丙在同一天同一时间监考。

戊：我想监考三场，但都不要安排在上午。

事后得知，这 3 位老师的要求均得到了满足。

54. 若周五安排乙监考，则可以得出以下哪项？【E】

A. 甲都是单独监考。

B. 乙有一场共同监考。

C. 丙都是共同监考。

D. 丁有一场共同监考。

E. 戊至少有一场共同监考。

【解析】本题考查分析推理。

题干信息：9 个考场（其中 2 个需要 2 人同时监考），5 位监考员（每人监考 2～3 个考场）则不重复情况下需要安排 11 位监考员，故 5 位监考员的监考分布为 2+2+2+2+3=11，4 位监考员监考 2 次，1 位监考员需要监考 3 次。

①甲安排在晚上，且不连续两晚；

②乙至少有一场安排在周四或周五，则乙和丙会有一场监考是在同一天同一时间。

③戊监考三场，都不在上午（即需要安排在下午或者晚上，且其他四人均只监考 2 场）。

新增条件：周五安排乙监考。代入②可知，乙和丙会有 1 场监考是在同一天同一时间，据此结合表和表格，可以框定在周一晚上或者周四下午和晚上。

假设乙和丙安排在晚上（周一和周四同理），即两人共同监考，此时结合①，甲会有 1 场与人

共同监考和 1 场单独监考，而要满足戊监考 3 场则需要戊与甲共同监考 1 场。
假设乙和丙安排在下午，此时戊只能从晚上的 4 场中选 3 场，而甲必会有 1 场与人共同监考和 1 场单独监考，则戊会有 2 场与人共同监考和 1 场单独监考。
因此，戊至少会有一场共同监考。
故选 E。

55. 若丁的监考都安排在晚上，则可以得出以下哪项？【C】
A.周一晚上甲有监考。
B.周五上午乙有监考。
C.周四下午丙有监考。
D.周三晚上丁有监考。
E.周二晚上戊有监考。
【解析】本题考查分析推理。
9 个考场的时间安排如下：

星期 / 时间	星期一	星期二	星期三	星期四	星期五
上午 9:00-11:00		1 人	1 人		1 人
下午 14:00-16:00				2 人不同场监考	
晚上 18:30-20:30	2 人共同监考	1 人	1 人	2 人共同监考	

题干信息：9 个考场（其中 2 个需要 2 人同时监考），5 位监考员（每人监考 2～3 个考场）则不重复情况下需要安排 11 位监考员，故 5 位监考员的监考分布为 2+2+2+2+3=11，4 位监考员监考 2 次，1 位监考员需要监考 3 次。
①甲安排在晚上，且不连续两晚；
②乙至少有一场安排在周四或周五，则乙和丙会有一场监考是在同一天同一时间。
③戊监考三场，都不在上午（即需要安排在下午或者晚上，且其他四人均只监考 2 场）。
新增条件：丁的监考都安排在晚上。
观察题干条件可知：甲和丁均安排在晚上（共占 4 人次），戊安排在下午和晚上，占 3 人次；下午和晚上一共需安排 8 人次，故戊有一场安排在周四下午。
此时可知，同一天同一时间的监考只能安排乙或丙的其中一个人，结合②根据“否后推否前”可得：乙安排在前三天，即乙安排在周二、周三上午。剩余的丙安排在周四下午和周五上午。
故选 C。

四、写作：两小题，共 65 分。其中论证有效性分析 30 分，论说文 35 分。
56.论证有效性分析：分析下述论证中存在的缺陷和漏洞，选择若干要点，写一篇 600 字左右的文章，对该论证的有效性进行分析和评论。（论证有效性分析的一般要点是：概念特别是核

心概念的界定和使用是否准确并前后一致，有无各种明显的逻辑错误，论证的论据是否成立并支持结论，结论成立的条件是否充分等等。）

有位西方哲学家曾经指出，一个人在已有的知识体系、价值观念、思维方式等因素的影响下，会形成特定的主观立场，即“前见”。实际上，人们在相互沟通与理解外部世界时无法摆脱这一“前见”。早在先秦时期庄子就说过，人们认为毛嫱是美女，但鱼见到毛嫱只会惊恐游走，这些都表明，人们在相互沟通与理解过程中，主观立场造成了很大障碍。

首先，不同个体交流时无法避免偏见，偏见是每个人都可能拥有的，这一主观立场正是我们沟通与理解的障碍。我们对喜欢的人往往会宽厚包容，对不喜欢的人会吹毛求疵。科学研究表明，别人对我们的实际印象与我们自认为留给别人的印象往往存在差异。

其次，性别不同也会带来主观立场的不同，从而导致沟通障碍。比如，家庭中丈夫和妻子在思维方式上存在不小的差异，丈夫往往偏重理性，而妻子则偏重感性，所以双方从各自的主观立场出发讨论问题时，就会产生分歧与争议。

再次，不同文化之间的交流与理解也存在同样问题。比如不同文化在审美标准上的主观差异通常会导致误解，与中国历史上伟大诗人李白作品相比，唐代僧人寒山的诗作更受一些美国人的喜爱，白居易的诗篇更受一些日本人青睐。所以不同文化背景下的读者在评判作家作品的高下时经常产生争议。

虽然主观立场造成了沟通与理解的障碍，但这并不意味着人们无法进行理解与沟通。千百年来人们通过换位思考来克服障碍，避免自己的立场过于主观。

【参考解析】

错误类型	题干原文	论证理由
偷换概念	有位西方哲学家曾经指出，一个人在已有的知识体系、价值观念、思维方式等因素的影响下，会形成特定的主观立场，即“前见”。实际上，人们在相互沟通与理解外部世界时无法摆脱这一“前见”	“前见”指的是在已有知识体系、价值观念、思维方式等因素影响下形成的特定主观立场，这是一个相对中性且具体的描述。然而，在论述中，“前见”被偷换成了“人们在相互沟通与理解外部世界时无法摆脱”的固有偏见，具有贬义色彩。
类比不当	早在先秦时期庄子就说过，人们认为毛嫱是美女，但鱼见到毛嫱只会惊恐游走，这些都表明，人们在相互沟通与理解过程中，主观立场造成了很大障碍	庄子的故事强调的是美的主观性和相对性，而非沟通与理解的障碍。将鱼对毛嫱的反应与人类之间的沟通障碍进行类比，忽略了两者之间的本质差异。鱼作为低级生物，其反应更多是基于本能和生存需求，而人们的沟通与理解障碍，并非单纯由主观立场造成，还涉及语言、文化、背景知识等多种复杂因素。
以偏概全	不同个体交流时无法避免偏见，偏	将“偏见”泛化为所有个体交流的必然产物

错误类型	题干原文	论证理由
	见是每个人都可能拥有的，这一主观立场正是我们沟通与理解的障碍	是不准确的。虽然偏见确实存在于某些个体交流中，但不能因此就断定所有个体在交流时都无法避免偏见。人们通过教育、自我反思和开放心态，是可以减少甚至消除偏见的。将个别现象推广到所有情况，显然是以偏概全的做法。
绝对推断	性别不同也会带来主观立场的不同，从而导致沟通障碍	虽然性别差异可能导致沟通方式和思维方式的不同，但不能绝对地认为性别不同就一定会带来主观立场的不同，进而导致沟通障碍。首先，性别不是决定沟通效果的唯一因素。在实际沟通中，人们的沟通效果受到多种因素的影响，如个人性格、教育背景、生活经验、沟通技巧等；其次，沟通障碍的产生往往与多种因素有关，而非单一性别因素所能解释。例如，社会文化差异、语言障碍、信息不对称等都可能导致沟通障碍。
非黑即白	家庭中丈夫和妻子在思维方式上存在不小的差异，丈夫往往偏重理性，而妻子则偏重感性，所以双方从各自的主观立场出发讨论问题时，就会产生分歧与争议	论证将丈夫和妻子的思维方式简单地划分为理性和感性两种极端是非黑即白的做法。实际上，人们的思维方式是复杂且多样的，并不能简单地以理性和感性来完全概括。丈夫和妻子在思维方式上可能存在差异，但这种差异并不意味着丈夫完全理性，妻子完全感性。他们的思维方式可能既包含理性成分，也包含感性成分，只是侧重点可能不同而已。
条件混淆	不同文化在审美标准上的主观差异通常会导致误解，与中国历史上伟大诗人李白作品相比，唐代僧人寒山的诗作更受一些美国人的喜爱，白居易的诗篇更受一些日本人青睐。所以不同文化背景下的读者在评判作家作品的高下时经常产生争议	这里将不同文化在审美标准上的主观差异视为导致误解和争议的充分条件，而实际上这只是一个可能条件。不同文化背景下的读者在评判作家作品时，除了审美标准的主观差异外，还受到诸多其他条件的影响，如文化背景、教育经历、个人喜好等。因此，将审美标准的主观差异视为导致误解和争议的充分条件，是忽略了这些复杂因素的作用。
自相矛盾	虽然主观立场造成了沟通与理解的障碍，但这并不意味着人们无法进	前文多次提及主观立场对沟通与理解造成的障碍。然而，在文段的末尾，却突然转折指

错误类型	题干原文	论证理由
	行理解与沟通	出“虽然主观立场造成了沟通与理解的障碍，但这并不意味着人们无法进行理解与沟通。”这句话与前文形成了明显的自相矛盾。前文刚刚强调了主观立场是沟通与理解的障碍，而这里却又说人们仍然可以进行理解与沟通，并且通过换位思考来克服这一障碍。

【参考范文】

主观立场造成了沟通与理解的障碍吗

上文通过一系列推理试图得出“主观立场造成了沟通与理解的障碍”的结论，其论证过程看似有理有据，实则存在诸多漏洞，让人难以信服，现分析如下。

首先，论证引用庄子的故事无法推出主观立场造成了沟通与理解的障碍。庄子的故事强调的是美的主观性和相对性，而非沟通与理解的障碍。将鱼对毛嫱的反应与人类之间的沟通障碍进行类比，忽略了两者之间的本质差异。鱼作为低级生物，其反应更多是基于本能和生存需求，而人们的沟通与理解障碍，并非单纯由主观立场造成，还涉及语言、文化、背景知识等多种复杂因素。

其次，不同个体交流时未必无法避免偏见。将“偏见”泛化为所有个体交流的必然产物是不准确的。虽然偏见确实存在于某些个体交流中，但不能因此就断定所有个体在交流时都无法避免偏见。人们通过教育、自我反思和开放心态，是可以减少甚至消除偏见的。将个别现象推广到所有情况，显然是以偏概全的做法。

此外，不能绝对地认为性别不同就一定会带来主观立场的不同，进而导致沟通障碍。首先，性别不是决定沟通效果的唯一因素。在实际沟通中，人们的沟通效果受到多种因素的影响，如个人性格、教育背景、生活经验、沟通技巧等；其次，沟通障碍的产生往往与多种因素有关，而非单一性别因素所能解释。例如，社会文化差异、语言障碍、信息不对称等都可能导致沟通障碍。

最后，论证将不同文化在审美标准上的主观差异视为导致误解和争议的充分条件，而实际上这只是一个可能条件。不同文化背景下的读者在评判作家作品时，除了审美标准的主观差异外，还受到诸多其他条件的影响，如文化背景、教育经历、个人喜好等。因此，将审美标准的主观差异视为导致误解和争议的充分条件，是忽略了这些复杂因素的作用。

综上所述，上述材料论证过程存在着诸多逻辑漏洞，因此其得出的“主观立场造成了沟通与理解的障碍”的结论难以令人信服。

57. 论说文：根据下述材料，写一篇 700 字左右的论说文，题目自拟。

通常情况下，人们都希望被他人认可，被社会承认。这种心理会促使他们去接受某种评价

标准，因为只有接受了标准并身体力行，他们才能被社会肯定，否则便会被认为不合群。

【参考解析】

写作思路：找出材料的关键词➞分析立意➞确定写作方向。

（1）关键词识别

“被他人认可”“被社会承认”：这是人们追求的心理目标。

“接受某种评价标准”：这是实现上述目标的一种手段。

“身体力行”“被社会肯定”：这是接受并遵循评价标准后的可能结果。

“否则便会被认为不合群”：这是不接受或违背评价标准可能面临的负面后果。

（2）立意角度

文章可以从正反两方面进行论证，从个人、社会、企业几个主体角度去写都是可以的。

①正面角度：从社会认可、合群的角度去分析

强调社会认可对个体行为的积极引导作用。

个体如何通过适应和遵循社会标准来实现。

②反面角度：从个人认可、打破规则、超群出众的角度去分析

过度追求社会认可有可能导致个性压抑、创新思维受限。

拒绝盲目接受社会评价标准，保持独立思考和个性，实现自我价值。

（3）易错点：片面理解社会认可、过度强调评价标准、忽视个体差异性、忽略不合群的负面影响等。

结构——“二选一”（A∨B）		
环节	**论证目的**	**分析思路**
1	破题：是什么	引用材料并概括➞立论
2	为什么	不合群的意义（引用例子）
4	怎么办	在保持个性的同时，也要学会尊重与理解他人
5	结尾：强调是什么	总结与概括总论点

【参考范文】

独舞于群外：不合群之美

在这个群居的世界里，人们总是本能地追求着被认可、被接纳的温暖。仿佛只有融入了那个名为“群体”的海洋，才能证明自己的存在价值。然而，在这股汹涌的潮流中，我愿为那些敢于独舞于群外，不畏“不合群”标签的勇者喝彩。因为，正是这份不合群，孕育了思想的火花，照亮了前行的道路。

社会如同一幅巨大的画卷，由千千万万个色彩斑斓的个体共同绘就。若每个人都盲目遵循同一套评价标准，这幅画将失去其独有的韵味与深度。正如历史上那些伟大的思想家、艺术家，他们往往是在不被主流接受，甚至被视为“异类”的境遇下，才创造出了震撼人心的作品。梵高，这位被誉为“疯狂的天才”，他的画作在当时并不被世人所理解，但他坚持自己的艺术风

格，最终成为了艺术史上的璀璨明星。他的不合群，不仅是对个人信念的坚守，更是对艺术创新的勇敢探索。

不合群，并不意味着孤独与排斥，而是一种对内心声音的忠诚，一种对真理无畏的追求。它让人们敢于跳出框架，挑战权威，以独特的视角审视世界。正如乔布斯所言："你的时间有限，所以不要浪费时间去过别人的生活。"在这个快节奏的时代，我们太容易被外界的声音所左右，忘记了倾听内心的呼唤。而那些敢于不合群的人，正是用自己的行动诠释了何为真正的自由与独立。

当然，不合群并非毫无原则的叛逆，而是一种有思考的选择。它要求我们在保持个性的同时，也要学会尊重与理解他人。因为，正是这份差异与多样性，构成了世界的丰富多彩。

因此，让我们勇敢地拥抱那份不合群的美。不必为了迎合他人而改变自己，不必为了融入群体而牺牲真我。因为，真正的认可与尊重，往往来自那些敢于坚持自我，敢于独舞于群外的人。在这个充满挑战与机遇的时代，愿我们都能成为那个不畏"不合群"标签，勇敢追寻内心光芒的勇者。